Theme 07 | 삼국통일 과정

실전 연습 문제 삼국통일

1. 다음 삼국 통일 시기의 사건을 순서대로 바르게 나열한 것은?

㈀ 나당연합군이 고구려를 정벌하였다.
㈁ 양만춘은 안시성에서 당군을 무찔렀다.
㈂ 을지문덕이 살수에서 수나라의 침입을 무찔렀다.
㈃ 김유신과 소정방이 백제를 공격하여 점령하였다.

① ㈂ - ㈁ - ㈀ - ㈃
② ㈂ - ㈁ - ㈃ - ㈀
③ ㈁ - ㈂ - ㈃ - ㈀
④ ㈁ - ㈂ - ㈀ - ㈃

2. 다음 삼국 통일 시기의 사건을 순서대로 바르게 나열한 것은?

㈀ 안시성 전투에서 양만춘이 당군을 무찔렀다.
㈁ 매소성 전투가 벌어졌다.
㈂ 백강전투에서 백제 부흥군이 패배하였다.
㈃ 김유신과 소정방이 백제를 공격하여 점령하였다.

① ㈂ - ㈁ - ㈀ - ㈃
② ㈂ - ㈁ - ㈃ - ㈀
③ ㈀ - ㈃ - ㈂ - ㈁
④ ㈀ - ㈃ - ㈁ - ㈂

3. 다음 두 사건 사이의 상황으로 바르지 못한 것은?

㈀ 백제가 멸망하였다.
↓
㈁ 소부리주를 설치하였다,

① 계림도독부를 설치하였다.
② 고구려를 정벌하였다.
③ 백강전투가 벌어졌다.
④ 매소성 전투가 벌어졌다.

4. 다음 두 사건 사이의 상황으로 바르지 못한 것은?

㈀ 나당동맹을 체결하였다.
↓
㈁ 안동도호부가 설치되었다.

① 황산벌 전투가 벌어졌다.
② 백강전투가 벌어졌다.
③ 계림도독부가 설치되었다.
④ 소부리주를 설치하였다.

5. 연표의 ㈎ 시기의 사실로 적절한 것을 <보기>에서 고른 것은?

660 — ㈎ — 676
백제 멸망 — 신라의 삼국 통일

<보기>
㈀ 을지문덕은 청천강 유역에서 수의 침략을 무찔렀다.
㈁ 백제가 신라의 대야성을 점령하였다.
㈂ 웅진도독부와 계림도독부가 설치되었다.
㈃ 매소성 전투가 벌어졌다.

① ㈀, ㈁
② ㈀, ㈂
③ ㈁, ㈂
④ ㈂ , ㈃

기출문제 Pre-view 삼국통일

1. 삼국 통일 과정의 역사적 사실들을 일어난 순서대로 바르게 나열한 것은? [2016년 사회복지직]

㈀ 나·당 연합군의 공격으로 사비성이 함락되자 웅진에 있던 의자왕이 항복하였다.
㈁ 나·당 연합군의 공격으로 평양성을 지키던 연개소문의 아들인 남산이 항복하였다.
㈂ 신라는 사비성을 탈환하고 웅진도독부를 대신하여 소부리주를 설치하였다.
㈃ 신라군이 당나라 군대 20만 명을 매소성에서 크게 물리쳤다.

① ㈀ - ㈁ - ㈂ - ㈃ ② ㈀ - ㈂ - ㈁ - ㈃
③ ㈁ - ㈀ - ㈃ - ㈂ ④ ㈁ - ㈃ - ㈀ - ㈂

2. ㈎ 시기에 해당되는 사실로 옳은 것만을 <보기>에서 모두 고르면? [2018년 지방직 9급]

문무왕이 왕위에 올랐다. → (가) → 신라가 기벌포에서 당의 수군을 격파하였다.

㈀ 신라가 안승을 고구려왕에 봉했다.
㈁ 당나라가 신라를 계림대도독부로 삼았다.
㈂ 신라가 황산벌 전투에서 백제군을 무찔렀다.
㈃ 보장왕이 요동 지역에서 고구려 부흥을 꾀했다.

① ㈀, ㈁ ② ㈀, ㈂
③ ㈁, ㈃ ④ ㈂, ㈃

Theme 09 통일신라의 발전과 멸망

실전 연습 문제 통일신라의 발전과 멸망

1. 다음은 신라 역사를 세 시기로 구분한 것이다. 이에 대한 설명으로 옳지 않은 것은?

상고	㈀ 중고	하고	
㈁ 상대		㈂ 중대	㈃ 하대

① ㈀ : 관산성 전투에서 승리하였다.
② ㈁ : 황룡사 9층 목탑이 건립되었다.
③ ㈂ : 녹읍이 폐지되었다.
④ ㈃ : 김흠돌의 모반 사건이 발생하였다.

2. 다음을 순서대로 바르게 나열한 것은?

㈀ 원종과 애노의 난이 일어났다.
㈁ 독서삼품과를 실시하였다.
㈂ 장보고가 완도에 청해진을 설치하였다.
㈃ 무열계 김헌창과 김범문이 반란을 일으켰다.

① ㈀ - ㈁ - ㈃ - ㈂
② ㈁ - ㈂ - ㈃ - ㈀
③ ㈁ - ㈃ - ㈂ - ㈀
④ ㈂ - ㈁ - ㈃ - ㈀

3. 다음은 통일신라시대의 연표이다. ㈎~㈐ 시기의 상황은 옳지 않은 것은?

㈎	㈏	㈐	㈑	
김흠돌의 난	96각간의 난	김헌창의 난	원종과 애노의 난	

① ㈎ : 부석사와 낙산사가 건립되었다.
② ㈏ : 감은사지 3층 석탑이 건립되었다.
③ ㈐ : 장보고가 청해진을 설치하였다.
④ ㈑ : 장보고의 난이 발생하였다.

4. 연표의 ㈎~㈐ 시기에 대한 설명으로 옳지 않은 것은?

	㈎	㈏	㈐	
마립간사용	집사부 설치	96각간의 난	신라멸망	

① ㈎ : 화랑도가 국가조직으로 정비되었다.
② ㈏ : 정전이 지급되었다.
③ ㈏ : 석굴암과 불국사가 만들어졌다.
④ ㈐ : 김흠돌의 모반사건이 발생하였다.

5. 다음 통일 신라의 상황을 순서대로 바르게 나열한 것은?

㈀ 월봉을 없애고 다시 녹읍을 주었다.
㈁ 당의 요청으로 발해를 공격하였다.
㈂ 감은사를 건립하였다.
㈃ 삼대목이 편찬되었다.

① ㈂ - ㈁ - ㈀ - ㈃
② ㈂ - ㈁ - ㈃ - ㈀
③ ㈂ - ㈀ - ㈁ - ㈃
④ ㈁ - ㈂ - ㈃ - ㈀

6. ㈎, ㈏ 사이의 시기에 있었던 사실에 대한 설명으로 옳은 것은?

㈎ 관리의 녹읍을 혁파하고 매년 조(租)를 내리되 차등이 있게 하였다.
↓
㈏ 여러 관리의 월봉을 없애고, 다시 녹읍을 나누어 주었다.

① 우리나라 최대의 종인 에밀레 종이 만들어졌다.
② 지방을 감찰하기 위해 외사정이 파견되었다.
③ 원종과 애노의 난이 발생하였다.
④ 당의 요청으로 발해를 공격하였다.

기출문제 Pre-view 통일신라의 발전과 멸망

1. ㈎와 ㈏ 사이의 시기에 있었던 사실에 대한 설명으로 옳은 것은? [2013년 국가직 9급]

㈎ 관리의 녹읍을 혁파하고 매년 조(租)를 내리되 차등이 있게 하였다.
㈏ 여러 관리의 월봉을 없애고, 다시 녹읍을 나누어 주었다.

① 처음으로 병부를 설치하였다.
② 화백 회의에서 국왕을 폐위시킨 일이 있었다.
③ 호족이 지방의 행정권과 군사권을 장악하였다.
④ 6두품이 학문적 식견을 바탕으로 국왕의 조언자로 활동하였다.

2. 다음 ㈎, ㈏ 사이의 시기에 있었던 사실로 옳지 않은 것은? [2018년 법원직]

㈎ 대왕을 도와 조그마한 공을 이루어 삼한을 한 집으로 만들었으며, 백성들은 두 마음이 없게 되었습니다(三韓爲一家百姓無二心). 비록 아직 태평한 세상에 이르지는 못하였으나 조금 편안한 상태는 되었습니다.
㈏ 원종과 애노 등이 사벌주에서 반란을 일으키니 왕이 나마(관직명) 영기에게 명하여 잡게 하였으나 영기가 적진을 쳐다보고는 두려워하여 나아가지 못하였다.

① 발해의 장문휴가 산둥 반도를 공격하였다.
② 장보고의 도움을 받아 신무왕이 즉위하였다.
③ 궁예가 개성을 수도로 삼고 후고구려를 건국하였다.
④ 발해 문왕이 상경 용천부에서 동경 용원부로 수도를 옮겼다.

Theme 10 | 통일신라의 주요 왕들

실전 연습 문제 | 통일신라의 주요 왕들

1. 다음 자료의 사건이 발생한 왕 시기의 상황으로 바른 것은?

> 원년 8월에 반란을 진압하고 교서를 내려 말하였다. "역적의 우두머리들은 재능이 아니라 혜택을 받아 그 벼슬에 올랐으면서도 포악한 마음을 가져 반란을 일으키려 하였다. 다행이 미리 알아내어 우두머리들과 잔당까지 모두 소탕할 수 있었다."

① 실직주를 설치하였다.
② 정전을 지급하였다.
③ 9서당 10정을 정비하였다.
④ 사치금지령을 반포하였다.

2. 다음은 신라 설총이 이 왕에게 올린 화왕계이다. '이 왕'에 대한 설명으로 바른 것은?

> 어떤 이가 화왕(모란)에게 말하였다. "두 명(장미와 할미꽃)이 왔는데 어느 쪽을 취하고 어느 쪽을 버리시겠습니까?" 화왕이 말하였다. "장부(할미꽃)의 말도 일리가 있지만 어여쁜 여자(장미)는 얻기가 어려운 것이니 이 일을 어떻게 할까?" 장부가 다가서서 말하였다. "저는 대왕이 총명하여 사리를 잘 알 줄 알고 왔더니 지금 보니 그렇지 않군요. ……" 화왕이 대답하였다. "내가 잘못했노라. 내가 잘못했노라." 이에 왕이 얼굴빛을 바로 하였다. 「삼국사기」

① 김헌창과 김범문의 난이 발생하였다.
② 9주 5소경이 정비되었다.
③ 상원사 종을 제작하였다.
④ 안승을 고구려왕에 임명하였다.

3. 밑줄 그은 '왕'의 재위 기간에 있었던 사실로 옳은 것을 고른 것은?

> • 왕 10년 대상 대성이 불국사를 처음 창건하였다.
> • 왕 16년 중앙과 지방의 여러 관리들에게 매달 주던 녹봉을 없애고 다시 녹읍을 주었다.

① 성덕대왕 신종을 완성하였다.
② 동시전과 동시를 설치하였다.
③ 당의 요청으로 발해를 공격하였다.
④ 당 황제에게 만불산을 바쳤다.

4. 다음 자료의 밑줄 친 왕 시절의 상황으로 바르지 못한 것은?

> 왕 3년 나라 안의 여러 주·군에서 공부(貢賦)를 나르지 않으니 부(府)의 창고가 비어 버리고 나라의 쓰임이 궁핍해졌다.
> - 삼국사기 -

① 원종과 애노의 난이 발생하였다.
② 적고적이라는 도적떼가 활동하였다.
③ 삼대목을 편찬하였다.
④ 사치금지령을 내렸다.

5. 다음 자료의 국왕에 대한 설명으로 바른 것은?

> • 선왕께서는 백성들의 잔혹한 피해를 불쌍히 여겨 … 바다를 건너 중국에 들어가 황제께 군사를 요청하셨다. 이는 본래 두 나라를 평정하여 영원히 싸움이 없게 하고 여러 대에 걸친 깊은 원한을 설욕하며 남은 목숨을 온전히 하려는 것이었다.
> • 이 왕은 김유신공과 함께 삼국을 통일하였기에 묘호를 태종이라 한다.
> • 선왕께서 정관 22년에 … 당은 " 두 나라를 바로잡으면 평양 이남의 백제 땅은 모두 너희 신라에 주어 길이 편안케 하겠다."

① 최초의 진골왕이었다.
② 분황사와 영묘사를 건립하였다.
③ 고구려를 정벌하였다.
④ 달구벌로 천도 계획을 세웠다.

6. 다음 자료의 '이 사찰'을 건립할 당시 국왕에 대한 설명으로 바른 것은?

> '부처의 나라'라는 뜻의 이 사찰은 부처가 사는 이상적인 모습을 표현하였으며, 통일 신라의 높은 불교문화 수준을 보여 준다.

① 녹읍을 부활시켰다.
② 독서삼품과를 실시하였다.
③ 원종과 애노의 난이 발생했다.
④ 안승을 고구려왕에 임명하였다.

기출문제 Pre-view | 통일신라 주요 왕들

1. 다음은 어느 역사서의 일부분이다. 밑줄 친 인물의 왕위 재위 기간에 일어난 사실로 가장 적절한 것은?

[2020년 경찰 1차]

> "신의 나라가 대국을 섬긴 지 여러 해가 되었습니다. 그러나 백제는 강성하고 교활하여 침략을 일삼아 왔습니다. [중략] 만약 폐하께서 군사를 보내 그 흉악한 무리들을 없애지 않는다면 우리나라 백성은 모두 포로가 될 것입니다. 육로와 수로를 거쳐 섬기러 오는 일도 다시는 기대할 수 없을 것입니다." 태종이 크게 동감하고 군사를 보낼 것을 허락하였다.

① 갈문왕 제도가 사실상 폐지되고 상대등의 권한이 약화되었다.
② 비담과 염종 등 귀족 세력의 반란이 일어났다.
③ 독자적인 연호를 폐지하고 당 고종의 연호를 사용하였다.
④ 자장의 건의로 황룡사 9층 목탑이 축조되었다.

2. 사료에 해당하는 왕의 업적에 대한 설명 중 옳은 것을 <보기>에서 고르면? [2010년 법원직]

> • 5년 봄에 다시 완산주를 설치하고 용원으로 총관을 삼았다. 거열주를 승격하여 청주를 설치하니 비로소 9주가 갖추어져서 대아찬 복세로 총관을 삼았다. 3월 남원소경을 설치하고 여러 주와 군의 백성들을 옮겨 살게 하였다.
> • 9년 봄 정월에 내외관의 녹읍을 폐지하고 해마다 차등을 두어 조(租)를 주도록 하교하고, 이를 고정된 법식으로 삼았다. 왕이 달구벌로 서울을 옮기려다 실현하지 못하였다.
> - 삼국사기 -

㈀ 당을 축출하고 통일왕국을 형성하였다. ㈁ 김흠돌 모역 사건을 계기로 귀족 세력을 숙청했다. ㈂ 유학 사상을 강조하고, 국학을 설립했다. ㈃ 이사부로 하여금 우산국을 정벌케 하였다. ㈄ 행정실무를 담당하는 세력으로 6두품이 성장했다.

① ㈀, ㈁, ㈂ ② ㈀, ㈁, ㈃
③ ㈁, ㈂, ㈃ ④ ㈁, ㈂, ㈄

3. 다음 자료에 나타난 시기에 대한 설명으로 옳은 것은?

[2016년 지방직 9급]

곳곳에서 도적이 벌떼같이 일어났다. 이에, 원종, 애노 등이 사벌주(상주)에 의거하여 반란을 일으키니, 왕이 나마 벼슬의 영기에게 명하여 잡게 하였다.

① 지방에서는 호족 세력이 성장하였다.
② 신진사대부가 대두하여 권문세족을 비판하였다.
③ 농민들은 전정, 군정, 환곡 등 삼정의 문란으로 고통을 받았다.
④ 봄에 곡식을 빌려 주었다가 가을에 추수한 것으로 갚게 하는 진대법을 실시하였다.

Theme 11	발해
실전 연습 문제	발해 개관

1. 다음을 반박할 수 있는 근거로 적당하지 않은 것은?

발해 주민의 대부분은 말갈인이기 때문에 발해는 당나라의 지방정부로서 소수 민족사로 인식되어야 한다.

① 정혜공주묘의 모줄임 천장 구조
② 온돌 장치
③ 지배층의 민족 구성
④ 주작대로와 영광탑

2. 다음 자료와 관련된 국가에 대한 설명으로 옳지 않은 것은?

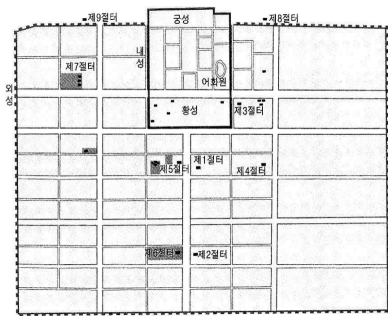

① 당의 통치조직을 모방하여 3성을 운영하였다.
② 민족 구성 중 지배층은 대부분 고구려 유민이었다.
③ 5경 15부 62주의 지방제도를 정비하였다.
④ 쌍봉사 철감선사탑을 제작하였다.

3. 다음 자료에 대한 설명으로 바르지 못한 것은?

"열국을 보태고 제번을 거느려, ㈀의 옛 터전을 회복하였으며, ㈁의 풍속을 유지하게 되었습니다."

① ㈀ : 데릴사위제가 있었다.
② ㈁ : 1세기 초 이미 왕호를 사용하였다.
③ ㈁ : 사출도를 족장이 지배했다.
④ ㈁ : 민며느리제의 풍속이 있었다.

4. 밑줄 친 '북국'에 대한 설명으로 옳지 않은 것은?

원성왕 6년 3월 사신을 북국(北國)에 보내 예를 갖추어 방문하였다. …… 요동 땅에서 일어나 고구려의 북쪽 땅을 병합하고 신라와 더불어 경계를 서로 맞대었지만, 서로 사신을 보낸 일이 역사에는 전하는 것이 없었다. 이때에 와서 일길찬 백어를 보내어 방문하였다. -「동사강목」-

① 지배층은 고구려인이 다수였다.
② 3성 6부와 주자감 등이 설치되었다.
③ 926년 여진족의 침략으로 멸망하였다.
④ 정혜공주묘는 모줄임천장구조였다.

실전 연습 문제 발해 주요 왕들

1. 다음 자료의 왕 대의 상황에 대한 설명으로 바른 것은?

> 왕의 이름은"무예"로 고왕 대조영의 아들이다. 인안이라는 연호를 쓰고 영토를 개척하였다. … 왕이 이르기를 "흑수가 당과 더불어 앞뒤로 우리를 치려는 것이다."하고 흑수를 치게 하였다.

① 수도를 중경에서 상경으로 옮겼다.
② 신라도를 개설하였다.
③ 장문휴가 당의 산둥반도를 공격하였다.
④ 요동으로 진출하였다.

2. 발해의 정치적 발전을 순서대로 바르게 나열한 것은?

> ㈀ 일본과 수교를 맺었다.
> ㈁ 국립대학인 주자감을 설치하였다.
> ㈂ 5경 15부 62주를 정비하였다.
> ㈃ 동경에서 상경으로 마지막으로 천도하였다.

① ㈀ - ㈁ - ㈂ - ㈃
② ㈁ - ㈀ - ㈃ - ㈂
③ ㈀ - ㈁ - ㈃ - ㈂
④ ㈁ - ㈀ - ㈂ - ㈃

3. 다음 자료의 왕에 대한 설명으로 바른 것은?

> 왕의 이름은 "무예"로 고왕 대조영의 아들이다. 인안이라는 연호를 쓰고 영토를 개척하였다. … 왕이 이르기를 "흑수가 당과 더불어 앞뒤로 우리를 치려는 것이다." 하고 흑수를 치게 하였다.

① 3성 6부를 정비하였다.
② 황상의 칭호를 사용했다.
③ 북만주 일대를 장악하였다.
④ 5경 15부 62주를 정비하였다,

4. 다음 자료의 왕에 대한 설명으로 바른 것은?

> 이 시기 흑수부 말갈이 당에 접근하여 벼슬을 청하였으며, 왕은 일본에 국서를 보내 고구려를 계승한 국가임을 표방하였다.

① 대야발의 후손들이 왕위를 계승하였다.
② 주자감을 설치하였다.
③ 당의 산둥반도를 공격하였다.
④ 해동성국이라 불렸다.

5. 다음 자료의 ㈀과 ㈁에 대한 설명으로 바르지 못한 것은?

> 대조영이 죽자 그 아들 ㈀ 무예가 왕위에 올라 영토를 크게 개척하였다. … 연호를 인안이라고 하였다. …… 무예가 죽자 그 아들 ㈁ 흠무가 왕위에 올라 연호를 대흥으로 고치니, …

① ㈀ : 신라와 충돌이 있었다.
② ㈀ : 일본과 수교를 맺었다.
③ ㈁ : 해동성국이라 불렸다.
④ ㈁ : 황상의 칭호를 사용하였다.

기출문제 Pre-view 발해 주요 왕들

1. ㈎, ㈏ 국왕의 재위 시기에 있었던 사실로 옳은 것만을 <보기>에서 모두 고르면? [2014년 지방직 9급]

> ㈎ 대조영의 뒤를 이어 즉위하였다. 영토 확장에 힘을 기울여 동북방의 여러 세력을 복속하고 북만주 일대를 장악하였다.
> ㈏ 대부분의 말갈족을 복속시키고, 요동 지역으로 진출하였다. 이후 전성기를 맞은 발해를 중국에서는 해동성국(海東盛國)이라고 불렀다.

> ㈀ ㈎ - 수도를 중경에서 상경으로 옮겼다.
> ㈁ ㈎ - 장문휴가 수군을 이끌고 당(唐)의 산둥(山東) 지방을 공격하였다.
> ㈂ ㈏ - '건흥' 연호를 사용하고, 지방 행정 조직을 정비하였다.
> ㈃ ㈏ - 당시 국왕을 '대왕'이라 표현한 정혜공주의 묘비가 만들어졌다.

① ㈀, ㈁ ② ㈀, ㈃
③ ㈁, ㈂ ④ ㈂, ㈃

2. <보기>의 왕에 대한 설명으로 가장 옳은 것은? [2018년 서울시 9급]

> 왕은 당이 내분으로 어지러워진 틈을 타서 영토를 넓히고, 수도를 중경에서 상경으로, 다시 동경으로 옮겼다. 또한 대흥, 보력 등 독자적인 연호를 사용하였다.

① 산동 지방에 수군을 보내 당을 공격하였다.
② 당으로부터 해동성국이라 불렸다.
③ 전륜성왕을 자처하고 황상이라는 칭호를 사용하였다.
④ 동모산에 나라를 세웠다.

3. 다음 사건이 발생했던 시기에 발해에서 있었던 사실로 가장 옳은 것은? [2014년 법원직]

> 개원 20년 무예가 장수 장문휴를 보내 해적을 이끌고 등주자사(登州刺史) 위준을 공격하자, 당이 문예를 보내 병사를 징벌하여 토벌하게 하였다. 이어 김사란을 신라로 보내 병사를 일으켜 발해 남쪽 국경을 공격하게 하였다. - 신당서 -

① 부족을 통일한 여진족의 침략으로 멸망하였다.
② 중국인들이 해동성국이라 부를 정도로 전성기를 맞이하였다.
③ 당과 친선 관계를 맺었고, 신라도를 통해 신라와 대립 관계를 해소하였다.
④ 중국과 대등한 지위에 있음을 과시하기 위해 독자적인 연호를 사용하였다.

Theme 11 | 고대 국가의 통치 조직

실전 연습 문제 | 고대 국가의 통치 조직

1. 삼국의 통치 제도에 대한 설명으로 바르지 못한 것은?
① 고구려의 수상인 대대로는 3년마다 5부에서 선출하였다.
② 백제 고이왕은 6좌평과 22부를 설치하였다.
③ 신라는 17관등으로 경위와 외위로 구분되었다.
④ 통일 이후 신라는 국학을 설립하였다.

2. 삼국의 통치조직에 대한 설명으로 바르지 못한 것은?
① 신라는 관리들의 복색이 자, 비, 청, 황의 4가지로 구분되었다.
② 신라 집사부의 장인 시중은 진골이 담당하였다.
③ 고구려는 솔, 덕 계열로 관등이 구분되었다.
④ 통일 신라는 한산주에 2개의 정이 설치되었다.

3. 삼국 시대 통치 제도에 대한 설명으로 바르지 못한 것은?
① 고구려는 10여 관등으로 운영되었다.
② 정당성의 장인 대내상은 고구려의 수상이었다.
③ 백제는 6관등 나솔 이상은 자색을 입고, 은화 관식을 하였다.
④ 고이왕 때 6좌평과 자·비·청의 공복이 제정되었다.

4. 통일신라의 통치 조직에 대한 설명으로 바른 것을 모두 고른 거은?

㈀ 한산주에는 2개의 정이 설치되어 국경을 방어하였다. ㈁ 5경 15부 62주로 지방을 정비하였다. ㈂ 중앙군 9서당과 지방군 10정을 두었다. ㈃ 주자감을 설치하여 유학을 가르쳤다.

① ㈀ , ㈁
② ㈀ , ㈁ , ㈂
③ ㈁ , ㈂ , ㈃
④ ㈀ , ㈁ , ㈂ , ㈃

5. 통일 신라의 통치 조직을 정비된 순서대로 바르게 나열한 것은?

㈀ 국학을 설립하였다. ㈁ 실직주를 설치하였다. ㈂ 집사부를 설치하였다. ㈃ 병부와 상대등 제도를 실시했다.

① ㈂ - ㈁ - ㈃ - ㈀
② ㈂ - ㈀ - ㈁ - ㈃
③ ㈁ - ㈃ - ㈂ - ㈀
④ ㈁ - ㈂ - ㈀ - ㈃

6. 다음 자료의 교육기관에 대한 설명으로 바르지 못한 것은?

모든 학생의 벼슬은 대사로부터 그 이하에 이르는 귀족의 자제였으며, 연령은 15세부터 30세까지이며 수학 연한은 9년으로 하였다. 능력이 신통치 않으면 9년 이내에 한정하였으나 대기로 인정되는 경우 9년이 넘어도 재학을 허용하였다.

① 신문왕 때 설립되었다.
② 논어와 효경을 가르쳤다.
③ 졸업생에게 관등을 주었다.
④ 생원과 진사가 대과를 준비했다.

7. 발해의 통치 조직에 대한 설명으로 바른 것을 모두 고른 것은?

㈀ 정당성을 중심으로 운영되었다. ㈁ 사정부와 외사정을 파견하였다. ㈂ 상경은 당의 장안성을 모방하여 구획되었다. ㈃ 지방세력을 견제하기 위한 상수리제도가 마련되었다.

① ㈀ , ㈁
② ㈀ , ㈂
③ ㈁ , ㈃
④ ㈁ , ㈂

8. 발해의 통치 조직에 대한 설명으로 바르지 못한 것은?
① 문왕 때 주자감이라는 국립대학이 설립되었다.
② 3성 중 정당성을 중심으로 운영되었다.
③ 6부는 유교식 명칭을 사용하였고, 이원적으로 운영하였다.
④ 상수리제도를 실시하여 지방을 통제하였다.

기출문제 Pre-view | 고대 국가의 통치 조직

1. 삼국 시대 정치 제도에 대한 설명으로 가장 옳은 것은?
[2017년 서울시 사회복지직]
① 신라 화백회의는 만장일치 원칙이며 회의의 의장은 상좌평이다.
② 백제는 관품 구별에 따라 자·단·비·녹색의 공복을 입었다.
③ 신라는 진덕여왕대 집사부와 창부를 통합해 정무기관인 품주를 설치하였다.
④ 국상, 대대로, 막리지 등은 고구려에서 재상의 직위를 지칭한다.

2. 발해의 통치 체제에 대한 설명으로 옳은 것은?
[2017년 하반기 지방직 9급]
① 사정부를 두어 관리를 감찰하였다.
② 중앙의 핵심 군단으로 9서당이 있었다.
③ 정당성 아래에 있는 6부가 정책을 집행하였다.
④ 중앙과 지방에 각각 6부와 9주를 두어 다스렸다.

3. 삼국 통일 후 신라의 정치와 문화 발전에 대한 설명으로 옳은 것을 <보기>에서 모두 고르면? [2018년 국회직 9급]

㈀ 9주 5소경 체제로 지방 행정 조직을 정비하였다. ㈁ 삼국 통일을 기념하여 황룡사 9층탑을 창건하였다. ㈂ 유학 교육을 진흥시키기 위하여 국학을 설립하였다. ㈃ 화랑도를 제도화하여 국가적인 조직으로 개편하였다.

① ㈀, ㈁ ② ㈀, ㈂
③ ㈁, ㈂ ④ ㈁, ㈃
⑤ ㈂, ㈃

Theme 12	고대 경제

실전 연습 문제	고대 경제

1. 다음은 통일 신라 시기 토지 제도에 관한 내용이다. 시간 순으로 가장 바르게 배열한 것은?

㈎ 문무관료전을 지급하였다. ㈏ 내외관의 녹읍을 혁파하였다. ㈐ 처음으로 백성에게 정전을 지급하였다. ㈑ 내외관의 월봉을 없애고 녹읍을 지급하였다.

① ㈎ → ㈏ → ㈐ → ㈑ ② ㈏ → ㈎ → ㈑ → ㈐
③ ㈐ → ㈏ → ㈎ → ㈑ ④ ㈑ → ㈐ → ㈏ → ㈎

2. ㈀ ~ ㈂에 들어갈 내용으로 옳은 것은?

• 신문왕 7년 5월에 문무 ㈀ 을 지급하되, 차등을 두었다. • 신문왕 9년 1월에 내·외관의 ㈁ 을 혁파하고 매년 조(組)를 내리되, 차등이 있게 하였다. • 성덕왕 21년 8월에 처음으로 백성에게 ㈂ 을 지급하였다.

	㈀	㈁	㈂
①	관료전	식읍	민전
②	관료전	녹읍	정전
③	공음전	식읍	정전
④	공음전	녹읍	민전

3. 신라장적(민정문서)에 대한 설명으로 가장 적절하지 않은 것은?

① 서원경을 중심으로 하는 4개의 자연 촌락에 대한 조사이다.
② 촌주가 변동 사항을 조사하여 촌 단위로 매년 다시 작성하였다.
③ 호는 9등급으로, 인구는 연령에 따라 6등급으로 나누었다.
④ 촌주위답, 내시령답, 관모전답은 농민들이 공동체적으로 경작하였다.

4. 밑줄 친 '그'가 활동한 시기의 사실로 옳지 않은 것은?

그가 귀국하여 흥덕왕을 뵙고 아뢰기를, "중국의 어디를 가든지 우리나라 사람들을 노비로 삼고 있으니, 청해에 진영을 설치하여 해적이 사람들을 잡아 서쪽으로 데려가지 못하게 해 주십시오."라고 하였다. 왕은 그 말에 따라 군사 만 명을 주어 해상을 방비하게 하였다.

① 이슬람 상인이 울산에 와서 무역하였다.
② 발해에서 신라로 가는 교통로인 신라도가 있었다.
③ 양쯔 강 하류에 신라방과 신라촌이 있었다.
④ 수도에 다점과 주점 등 관영 상점이 설치되어 있었다.

기출문제 Pre-view 고대 경제

1. 밑줄 친 ㈀ ~ ㈃에 대한 설명으로 옳은 것은?
[2012년 지방직 9급]

• 문무왕 8년(668) 김유신에게 태대각간의 관등을 내리고 ㈀식읍 500호를 주었다.
• 신문왕 7년(687) 문무 관리들에게 ㈁관료전을 차등 있게 주었다.
• 신문왕 9년(689) 내외 관료의 ㈂녹읍을 혁파하고 매년 조(租)를 주었다.
• 성덕왕 21년(722) 처음으로 백성에게 ㈃정전을 지급하였다.

① ㈀ - 조세를 수취하고 노동력을 징발할 권리를 부여하였다.
② ㈁ - 하급 관료와 군인의 유가족에게 지급하였다.
③ ㈂ - 전쟁에서 큰 공을 세운 사람에게 공로의 대가로 지급하였다.
④ ㈃ - 왕권이 약화되는 배경이 되었다.

2. 신라 민정(촌락)문서와 관련된 내용을 모두 고르면?
[2009년 국가직 7급]

㈀ 개별 호의 등급으로 농민들의 생활 수준을 판단할 수 있었다.
㈁ 농민들은 호별로 연수유전답을 소유하고 경제적으로 독립되어 있었다.
㈂ 관모전답·내시령답·촌주위답 등의 토지는 촌민에 의해 소작되었다.
㈃ 중앙 정부는 자연 촌락에까지 지방관을 파견하여 농민을 통제하였다.

① ㈀ ② ㈀, ㈁
③ ㈀, ㈁, ㈂ ④ ㈀, ㈁, ㈂, ㈃

3. 밑줄 친 '그'가 활동한 시기의 상황에 대한 설명으로 옳은 것은? [2016년 사회복지직]

그가 돌아와 흥덕왕을 찾아보고 말하기를 "중국에서는 널리 우리나라 사람을 노비로 삼으니, 청해진을 만들어 적으로 하여금 사람들을 약탈하지 못하도록 하기를 원하나이다."라고 하였다. …(중략)… 대왕은 그에게 군사 만 명을 거느리고 해상을 방비하게 하니, 그 후로는 해상으로 나간 사람들이 잡혀가는 일이 없었다.
- 삼국사기 -

① 산둥 반도와 양쯔 강 하류에 신라방과 신라소가 있었다.
② 삼한통보, 해동통보, 해동중보 등의 화폐가 주조되었다.
③ 시전을 설치하고, 개경·서경 등 대도시에 주점, 다점 등 관영 상점을 두었다.
④ 「농상집요」를 통해 이앙법이 남부 지방에 보급될 정도로 논농사가 발전하였다.

Theme 13 고대 사회

실전 연습 문제 고대 사회

1. 밑줄 친 '이 나라'에 대한 설명으로 가장 옳은 것은?

이 나라의 의복은 고구려와 대략 같다. … 나솔 이상은 관(冠)을 은꽃으로 장식한다. 장덕은 자주색 띠, 시덕은 검은 띠, … 무독부터 극우까지는 모두 흰 띠를 착용한다.

① 울산항이 국제 무역항이었다.
② 절도 시에 2배를 배상하게 하였다.
③ 화백회의를 통해 국가 중대사를 결정하였다.
④ 지배층의 대부분은 고구려계, 주민의 다수는 말갈인이었다.

2. 다음 <보기>의 출신에 대한 설명으로 가장 적절하지 않은 것은?

• 관등 승진의 상한선은 아찬까지였다.
• 이 골품에 해당하는 자는 비색 공복(公服)은 입을 수 있었으나, 자색 공복(公服)은 입을 수 없었다.

① 중앙 관청의 우두머리나 지방 장관직을 담당하였다.
② 득난이라고도 불렸다.
③ 집사부의 시랑직에 임명되었다.
④ 강수, 설총, 최치원이 이 골품에 해당하는 자들이었다.

3. ㈎에 대한 설명으로 옳지 않은 것은?

진흥왕 때에 처음으로 ___㈎___을/를 두었다. …(중략)… 무리가 구름처럼 모여들어 명산과 대천을 돌아다니며 멀리가 보지 아니한 곳이 없었다. 이를 통해 인품을 알게 되어 그 가운데 착한 자를 조정에 추천하였다.

① 원광이 세속오계를 작성하였다.
② 삼국통일에 큰 공을 세운 인물들을 배출하였다.
③ 이들은 경당이라는 교육단체에서 무술을 연마하였다.
④ 계급 간의 갈등을 완화하고 조절하는 기능을 하였다.

기출문제 Pre-view 고대 사회

1. 다음 밑줄 친 인물이 속한 사회 계층에 대한 설명으로 옳은 것을 <보기>에서 고른 것은? [2018년 기상직 9급]

태종대왕(太宗大王)이 즉위하자 당의 사신이 와서 조서를 전했는데, 그 가운데 해독하기 어려운 부분이 있었다. 왕이 그를 불러 물으니, 그가 왕 앞에서 한번 보고는 설명하고 해석하는데 의심스럽거나 막히는 데가 없었다. 왕이 놀랍고도 기뻐 서로 만남이 늦은 것을 한탄하고 그의 성명을 물었다. 그가 대답하여 아뢰었다. "신은 본래 임나가량(任那加良) 사람이며 이름은 우두(牛頭)입니다." 왕이 말했다. "경의 두골을 보니 강수 선생이라고 부를 만하다." 왕은 그에게 당 황제의 조서에 감사하는 회신의 표를 짓게 하였다. 문장이 세련되고 뜻이 깊었으므로, 왕이 더욱 그를 기특히 여겨 이름을 부르지 않고 임생(任生)이라고만 하였다.
- 삼국사기 -

㈀ 속현에서 농민들의 실질적인 지배 세력이었다. ㈁ 학문과 종교 분야에서 활발히 활동하였다. ㈂ 신분은 양인이었으나 직역이 천해 사회적 차별이 심하였다. ㈃ 6관등인 아찬까지만 승진할 수 있었다.

① ㈀, ㈁ ② ㈀, ㈂
③ ㈁, ㈃ ④ ㈂, ㈃

2. 밑줄 친 '이 신분'에 대한 설명으로 옳은 것은?

[2016년 교육행정직]

이 나라에서는 골품을 따져 사람을 쓰기 때문에 그 친족이 아니면 비록 뛰어난 재주와 큰 공이 있어도 처음 정해진 한도를 넘지 못하였다. 이 신분의 경우 두품 가운데 가장 높았지만 17관등 중 제6관등인 아찬까지만 오를 수 있었다. 하지만 성주사지 낭혜화상비에 '득난(得難)'이라고 표현되어 있듯이 매우 얻기 어려운 신분이었다.

① 어려서부터 경당에 들어가 유학과 활쏘기를 배웠다.
② 신라 말 호족과 함께 사회 개혁을 추구하기도 하였다.
③ 상좌평에 임명되어 군사와 정사를 도맡아 처리하였다.
④ 중추원에 소속되어 군사 기밀과 왕명 출납을 담당하였다.

3. 다음 자료는 어느 인물의 가상 회고이다. 이 인물이 보았을 사회 모습으로 옳은 것을 <보기>에서 모두 고른 것은?

[2017년 법원직]

나는 13세 때 당나라로 유학을 떠났어. 당나라에서 벼슬살이를 하던 중 황소의 난이 일어났어. 그때 황소를 격퇴하자는 글을 써서 꽤 유명해졌지. 이후 벼슬살이를 그만두고 고국으로 돌아와 개혁안 10여 조를 건의하였지만 뜻을 이루지 못했지. 이에 절망하고 속세를 떠나 은둔 생활을 하였어.

㈀ 홍경래를 중심으로 일어난 농민 봉기 ㈁ 벽란도에서 비단을 파는 중국 상인 ㈂ 산둥 반도의 신라원에 도착한 신라 사신 ㈃ 빈공과 합격을 위해 당에서 공부하는 신라 유학생

① ㈀, ㈂ ② ㈀, ㈃
③ ㈁, ㈂ ④ ㈂, ㈃

Theme 14	고대 문화
실전 연습 문제	유학과 기타 사상

1. 다음 인물들에 대한 설명으로 바르지 못한 것은?

① 강수는 불교를 세외교라고 비판하였다.
② 설총은 신문왕에게 '화왕계'라는 글을 바쳤다.
③ 김대문은 '제왕연대력' 등을 저술하였다.
④ 최치원은 '토황소격문'을 지었다.

2. 밑줄 친 '그'에 대한 설명으로 옳지 않은 것은?

아버지가 말하기를 "십 년 안에 과거에 급제하지 못하면 내 아들이 아니니 힘써 공부하라"라고 하였다. 그는 당에서 스승을 좇아 학문을 게을리 하지 않았다. 건부(乾符) 원년 갑오에 예부시랑 배찬이 주관하는 시험에 합격하여 선주(宣州)의 율수현위에 임명되었다. -「삼국사기」-

① 「제왕연대력」을 저술하였다.
② 난랑비 서문을 지었다.
③ '토황소격문'을 지었다.
④ '계림잡전' '고승전' '악본' 등을 지었다.

3. 다음 신라의 유학에 대한 설명으로 바르지 못한 것은?

① 신문왕은 국립대학 국학을 설립하였다.
② 성덕왕은 공자와 제자들의 화상을 국학에 안치하였다.
③ 강수는 6두품 출신으로 <토황소격문>을 남겼다.
④ 김대문은 신라문화의 주체성을 강조하였다.

4. 다음 자료의 사상과 관련된 설명으로 바른 것은?

신라 말기 도선과 같은 승려들이 중국에서 들여온 이 사상은 산세와 수세를 살펴 도읍, 주택 등을 선정하는 인문지리적 학설로서 국토의 효율적인 이용과 관련되어 있다.

① 업설을 강조하였다.
② 신라 정부의 권위를 약화시켰다.
③ 초제를 거행하였다.
④ 연개소문이 장려하였다.

5. 다음 밑줄 친 '이 종교'와 관련이 있는 사항으로 바르지 못한 것은?

불로장생과 현세의 구복을 추구하는 이 종교는 여러 가지 신을 모시면서 재앙을 물리치고 복을 빌며 나라의 안녕과 왕실의 번영을 기원하였다. 조선 시대에는 성리학의 영향으로 크게 위축되어 행사도 줄어들었다. 그러나 제천 행사가 국가의 권위를 높이는 점이 인정되어 참성단에서 일월성신에게 제사를 지냈다.

① 고구려의 사신도에 영향을 주었다.
② 무령왕릉의 매지권에도 이 사상이 담겨있다.
③ 신라 말 도선이 전래하였다.
④ 화랑도와 세속오계에도 영향을 주었다.

기출문제 Pre-view 유학과 기타사상

1. 밑줄 친 '그'에 대한 설명으로 옳지 않은 것은?
[2016년 국가직 7급]

> 아버지가 말하기를 "십 년 안에 과거에 급제하지 못하면 내 아들이 아니니 힘써 공부하라"라고 하였다. 그는 당에서 스승을 좇아 학문을 게을리 하지 않았다. 건부(乾符) 원년 갑오에 예부시랑 배찬이 주관하는 시험에 합격하여 선주(宣州)의 율수현위에 임명되었다. -「삼국사기」-

① 역사서인 「제왕연대력」을 저술하였다.
② 난랑비 서문에서 삼교 회통의 사상을 보여주였다.
③ 「법장화상전」에서 화엄종 승려의 전기를 적었다.
④ 사산비명의 하나인 고선사 서당화상비문을 지었다.

2. 다음 밑줄 친 '이 종교'와 관련이 있는 사항을 <보기>에서 모두 고른 것은? [2007년 중앙인사위 9급]

> 불로장생과 현세의 구복을 추구하는 이 종교는 여러 가지 신을 모시면서 재앙을 물리치고 복을 빌며 나라의 안녕과 왕실의 번영을 기원하였다. 조선 시대에는 성리학의 영향으로 크게 위축되어 행사도 줄어들었다. 그러나 제천 행사가 국가의 권위를 높이는 점이 인정되어 참성단에서 일월성신에게 제사를 지냈다.

㈀ 임신서기석	㈁ 초제
㈂ 백제 금동대향로	㈃ 팔관회

① ㈀, ㈁ ② ㈁, ㈂
③ ㈀, ㈁, ㈂ ④ ㈁, ㈂, ㈃

실전 연습 문제 탑과 불상과 건축 등

1. ㈎, ㈏에 대한 설명으로 옳지 않은 것은?

㈎

㈏

① ㈎ : 평제탑이라 불린다.
② ㈎ : 목탑 양식으로 현존 최고의 석탑이다.
③ ㈏ : 목판 인쇄물인 무구정광대다라니경이 발견되었다.
④ ㈏ : 불국사 3층 석탑이라 불린다.

2. 고대 탑에 대한 설명으로 바르지 못한 것은?
① 황룡사 9층 목탑은 자장의 건의로 선덕여왕 때 건립되었다.
② 분황사석탑은 돌을 벽돌처럼 다듬어 만든 석탑이다.
③ 익산 미륵사지석탑은 평제탑으로 불린다.
④ 신라 하대 양양 진전사지 3층 석탑은 기단과 탑신에 부조로 불상이 새겨져 있다.

3. ㈎ ~ ㈐에 대한 설명으로 옳지 않은 것은?

> ㈎ 미륵사지 석탑
> ㈏ 감은사지 3층 석탑
> ㈐ 불국사 3층 석탑(석가탑)

① ㈎는 현존 최고의 석탑으로 목탑 양식이다.
② ㈏는 신문왕 시절에 만들어졌으며, 동서2기로 되어있다.
③ ㈐의 무구정광대다라니경이 발견되었다.
④ ㈎ - ㈐ - ㈏의 순으로 건립되었다.

4. 고대 불교 문화에 대한 설명으로 바르지 못한 것은?
① 분황사 석탑은 돌을 벽돌모양으로 다듬어 쌓은 탑이다.
② 부여 정림사지 5층 석탑은 평제탑으로 불린다.
③ 황룡사 9층 목탑은 선덕여왕 시절 원광의 건의로 제작되었다.
④ 발해의 영광탑은 당의 영향을 받은 전탑이다.

기출문제 Pre-view 탑과 불상, 건축 등

1. 다음 <보기>의 문화재를 만들어진 순서대로 바르게 나열한 것은? [2015년 기상직 9급]

㈀ 쌍봉사 철감선사 승탑	㈁ 경주 첨성대
㈂ 석굴암	㈃ 무령왕릉 지석

① ㈃ - ㈀ - ㈁ - ㈂ ② ㈃ - ㈁ - ㈀ - ㈂
③ ㈃ - ㈁ - ㈂ - ㈀ ④ ㈃ - ㈂ - ㈁ - ㈀

2. <보기>의 석탑이 만들어진 시대의 탑에 대한 설명으로 옳은 것은? [2016년 국회직 9급]

> • 감은사지 3층 석탑 • 불국사 3층 석탑
> • 화엄사 쌍사자 3층 석탑

① 이중의 기단 위에 5층으로 쌓은 석탑이 전형적인 양식이다.
② 석재를 벽돌 모양으로 다듬어 쌓은 탑으로는 분황사 탑이 있다.
③ 말기에는 기단과 탑신에 불상의 부조를 새기는 등 다양한 변화가 나타났다.
④ 선종이 널리 퍼지면서 석종형을 기본으로 하는 승탑과 탑비가 유행하였다.
⑤ 다각 다층의 석탑이 많이 만들어졌다.

실전 연습 문제 고대 불교의 발달

1. 다음 자료를 저술한 승려에 대한 설명으로 가장 옳지 않은 것은?

> 열면 헬 수 없고 가없는 뜻이 대종(大宗)이 되고, 합하면 이문(二門) 일심(一心)의 법이 그 요체가 되어 있다. 그 이문 속에 만 가지 뜻이 다 포용되어 조금도 혼란됨이 없으며 가없는 뜻이 일심과 하나가 되어 혼융된다. 이런 까닭에 전개, 통합이 자재하고, 수립, 타파가 걸림이 없다. 펼친다고 번거로운 것이 아니고 합친다고 좁아지는 것도 아니다. 그리하여 수립하되 얻음이 없고 타파하되 잃음이 없다.

① 「대승기신론소」, 「금강삼매경론」을 저술하였다.
② 아미타 사상(정토종)을 보급하여 불교를 대중화 하였다.
③ 일심사상과 화쟁 사상을 전개하였다.
④ 현세에서 고난을 구제받고자 하는 관음 사상을 이끌었다.

2. 다음 승려에 대한 설명 중 가장 적절하지 않은 것은?
① 원효는 십문화쟁론을 저술하였다.
② 의상은 화엄일승법계도를 저술하였다.
③ 혜초는 왕오천축국전을 남겼다.
④ 진표는 당에서 현장으로부터 유식학을 배웠다.

3. 밑줄 친 '그'의 저술로 옳은 것은?

> 그는 당나라에 유학하여 지엄의 문하에서 수학하고 돌아와 영주에 부석사를 창건하고 문무왕의 정치적 자문도 맡았다. 그는 모든 우주만물이 대립적인 존재가 아니라 서로 조화하고 포용하는 관계를 가졌다고 주장해 유명한 '일즉다(一卽多) 다즉일(多卽一)'이라는 독특한 논리를 폈다. 즉 하나가 전체요 전체가 하나라는 것이다.

① 「화엄일승법계도」 ② 「대승기신론소」
③ 「십문화쟁론」 ④ 「걸사표」

4. 밑줄 친 '그'에 대한 설명으로 옳은 것은?

> 그는 그 모양대로 도구를 만들어 화엄경의 "일체 무애인은 한 길로 생사를 벗어난다."라는 문구에서 그 이름을 따와서 무애라 하며 이내 노래를 지어 세상에 퍼뜨렸다. 일찍이 이것을 가지고 많은 촌락에서 노래하고 춤추며 교화하고 음영하여 돌아왔으므로 가난하고 무지몽매한 무리들까지도 모두 부처의 호를 알게 되었고, 다 나무아미타불을 부르게 되었으니 그의 법화는 컸던 것이다. - 삼국유사 -

① 부석사를 창건하여 해동 화엄종의 시조가 되었다.
② 세속오계와 걸사표를 작성하였다.
③ 중관파와 유식파의 통합을 강조하였다.
④ 미륵신앙을 토대로 불교를 대중화하였다.

기출문제 Pre-view 고대 불교

1. ㈀ 인물의 활동으로 옳지 않은 것은?
[2015년 교육행정직]

> ㈀은/는 모든 진리는 한 마음에서 나온다는 일심(一心) 사상을 바탕으로 종파 간 논쟁을 조화롭게 승화시키려고 하였다. 또한 중생의 마음이 부처의 마음과 다르지 않다고 생각하며, 불교의 교리를 쉬운 노래로 만들어 부르며 백성에게 아미타 신앙을 적극 전파하였다.

① 여러 경전을 섭렵하여 금강삼매경론을 저술하였다.
② 중관 사상과 유식 사상의 대립을 해소하고자 화쟁 사상을 전개하였다.
③ 귀족 중심의 불교에서 소외된 계층을 구제하고자 불교 대중화 운동을 벌였다.
④ 모든 존재가 서로 의존하며 조화를 이룬다는 논리가 담긴 화엄일승법계도를 펴냈다.

2. 다음 밑줄 친 '이 승려'에 대한 설명으로 옳은 것을 <보기>에서 고른 것은? [2018년 기상직 9급]

> 이 승려가 입적한 후 100여 년이 지난 애장왕대(800~809)에 후손 중업과 각간 김언승 등이 중심이 되어 그를 추모하는 비(고선사 서당화상비)를 세웠으며, 1101년 8월 고려 숙종이 화쟁국사(和諍國師)라는 시호(諡號)를 추증(追贈)하였다.

> ㈀ 아미타 정토 신앙을 널리 전도하였다.
> ㈁ 진골 출신으로 화엄종을 개창하여 융성시켰다.
> ㈂ 진평왕의 명으로 수나라에 군사를 청하는 글을 지어 바쳤다.
> ㈃ 「대승기신론소」, 「금강삼매경론」 등을 저술하였다.

① ㈀, ㈁ ② ㈁, ㈂
③ ㈂, ㈃ ④ ㈀, ㈃

3. 다음 자료의 인물에 대한 설명으로 가장 옳은 것은?
[2017년 법원직]

> 그는 화엄경의 '일체 무애인은 한 길로 생사를 벗어난다.' 라는 구절을 따다 이름을 무애라 하고 노래를 지어 세상에 퍼뜨렸다. 일찍이 이것을 가지고 많은 촌락에서 노래하고 춤추며 교화하고 읊다가 돌아왔으므로 가난하고 무지몽매한 무리들까지도 모두 부처의 이름을 알게 되었고 나무아미타불을 부르게 되었다.
> - 삼국유사 -

① 화엄일승법계도를 지었다.
② 십문화쟁론을 저술하였다.
③ 수선사 결사를 제창하였다.
④ 교관겸수의 수행 방법을 내세웠다.

실전 연습 문제 고분과 고분벽화

1. 고대 국가의 문화에 대한 설명으로 가장 적절하지 않은 것은?
① 고구려에는 초기에 돌무지무덤을 주로 만들었다.
② 고구려는 초기 고분벽화에 생활 풍속도를 많이 그렸다.
③ 무령왕릉은 중국 남조의 영향을 받은 벽돌무덤이다.
④ 돌무지덧널무덤인 천마총에서 천마도라는 벽화가 발견되었다.

2. 다음 왕릉에 대한 설명으로 가장 적절하지 않은 것은?

> 1971년 7월, 송산리 고분군 배수로 공사 도중 무덤 하나가 우연히 발굴되었다. 그 입구를 열자, 무덤 주인을 알리는 지석이 놓여 있었다. 그 내용의 일부는 이러하다. "영동대장군인 사마왕은 62세가 되는 계묘년 5월 임진일인 7일에 돌아가셨다. 을사년 8월 갑신일인 12일에 안장하여 대묘에 모시었다."

① 충남 부여에 있다.
② 남조의 영향을 받은 벽돌무덤이다.
③ 남조의 영향을 받은 석수가 발견되었다.
④ 관은 일본산 금송이었다.

3. 밑줄 친 공주의 무덤에 대한 설명으로 가장 적절하지 않은 것은?

> 공주는 우리 대흥보력효감금륜성법대왕(발해 문왕)의 넷째 딸이다. 공주는 대흥 56년(792) 여름 6월 9일 임진일에 궁궐 밖에서 사망하니, 나이는 36세였다. 이 해 겨울 11월 28일 기묘일에 염곡의 서쪽 언덕에 매장하였으니 이것은 예의에 맞는 것이다.

① 죽은 자의 가족관계를 기록한 묘지(석)가 있다.
② 당의 영향을 받은 벽돌무덤이다.
③ 천장구조는 고구려의 영향을 받은 평행고임구조였다.
④ 무덤 양식은 굴식 돌방무덤이고, 돌사자상이 나왔다.

4. 다음과 같은 무덤 양식에 관한 서술로 가장 옳은 것은?

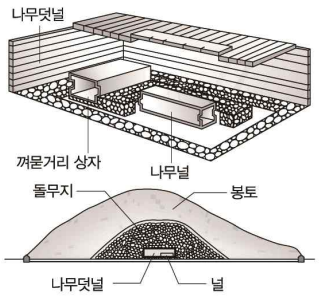

① 둘레돌을 두르고 12지신상을 조각하였다.
② 무령왕릉도 같은 형태의 무덤이다.
③ 석촌동 고분, 장군총이 대표적이다.
④ 천마총, 호우총, 서봉총 등이 대표적이다.

기출문제 Pre-view 고분과 고분벽화

1. 백제 무령왕릉과 발해 정효공주묘의 공통점으로 옳은 것만을 모두 고르면? [2019년 국가직 7급]

> ㈀ 중국 문화의 영향을 받아 만들어진 벽돌무덤이다.
> ㈁ 천장은 각을 줄여 쌓는 평행 고임 구조로 되어 있다.
> ㈂ 무덤방의 네 벽면에 회가 칠해지고 벽화가 그려져 있다.
> ㈃ 무덤에 묻힌 인물에 대해 알려 주는 문자 자료가 발견되었다.

① ㈀, ㈁ ② ㈀, ㈃
③ ㈁, ㈂ ④ ㈂, ㈃

2. 다음은 어느 유적의 사진과 내부 구조도이다. 이 유적에 대한 설명으로 옳은 것은? [2018년 교육행정직]



① 널방 벽에서 사신도(四神圖)가 발견되었다.
② 묘지석이 발굴되어 무덤 주인공이 밝혀졌다.
③ 화강암을 다듬어 쌓은 계단식 돌무지무덤이다.
④ 광개토대왕 제사 때 쓰인 호우명 그릇이 출토되었다.

도시락 Day 01 | 삼국통일 과정

1. 삼국 통일 과정을 순서대로 바르게 나열한 것은?

㈀ 나당동맹이 체결되었다.
㈁ 신라 김춘추는 고구려에 군사를 요청하였다.
㈂ 신라는 사비성을 함락시킨 후 소부리주를 설치하였다.
㈃ 당은 평양에 안동도호부를 설치하였다.

① ㈀ - ㈁ - ㈂ - ㈃
② ㈁ - ㈀ - ㈂ - ㈃
③ ㈁ - ㈀ - ㈃ - ㈂
④ ㈀ - ㈁ - ㈃ - ㈂

2. 신라의 삼국통일 과정을 순서대로 바르게 나열한 것은?

㈀ 기벌포 해전에서 신라군은 당군을 무찔렀다.
㈁ 문무왕은 사비지역에 소부리주를 설치하였다.
㈂ 당은 문무왕을 계림도독에 임명하였다.
㈃ 나당동맹이 체결되었다.

① ㈃ - ㈁ - ㈀ - ㈂
② ㈃ - ㈂ - ㈁ - ㈀
③ ㈃ - ㈁ - ㈂ - ㈀
④ ㈁ - ㈃ - ㈂ - ㈀

3. 다음 삼국 통일 시기의 사건을 순서대로 바르게 나열한 것은?

㈀ 신라 문무왕이 안승을 고구려왕에 임명하였다.
㈁ 을지문덕이 살수대첩에서 승리하였다.
㈂ 고구려는 천리장성을 축조하였다.
㈃ 매소성 전투가 벌어졌다.

① ㈂ - ㈁ - ㈀ - ㈃
② ㈂ - ㈁ - ㈃ - ㈀
③ ㈁ - ㈂ - ㈃ - ㈀
④ ㈁ - ㈂ - ㈀ - ㈃

4. 삼국 통일 과정을 순서대로 바르게 나열한 것은?

㈀ 매소성에서 당군을 무찔렀다.
㈁ 소부리주를 설치하였다.
㈂ 안동도호부가 요동지방으로 이동하였다.
㈃ 기벌포에서 당군을 격퇴하였다.

① ㈀ - ㈁ - ㈂ - ㈃
② ㈁ - ㈀ - ㈂ - ㈃
③ ㈁ - ㈀ - ㈃ - ㈂
④ ㈀ - ㈁ - ㈃ - ㈂

5. 다음 두 사건 사이의 상황으로 바르지 못한 것은?

㈀ 백강전투가 벌어졌다.
↓
㈁ 매소성전투가 벌어졌다.

① 황산벌 전투가 벌어졌다.
② 안동도호부가 설치되었다.
③ 안승을 고구려왕에 임명하였다.
④ 소부리주를 설치하였다.

Weak Point | 고대 경제와 사회, 문화

1. 다음을 순서대로 바르게 나열한 것은?

㈀ 문무 관료전을 지급하되, 차등을 두었다.
㈁ 처음으로 백성에게 정전을 지급하였다.
㈂ 내외관의 녹읍을 혁파하고 매년 조를 내리되, 차등이 있게 하여 이로써 영원한 법식을 삼았다.
㈃ 여러 내외관의 월봉을 없애고, 다시 녹읍을 나누어 주었다.

① ㈀ - ㈂ - ㈁ - ㈃ ② ㈀ - ㈁ - ㈂ - ㈃
③ ㈂ - ㈀ - ㈁ - ㈃ ④ ㈂ - ㈀ - ㈃ - ㈁

2. 다음 자료에 대한 설명으로 옳은 것은?

이것은 1933년 일본 도다이 사(東大寺) 쇼소인(正倉院)에서 발견된 문서입니다.

① 삼국시대 신라의 경제상황을 파악할 수 있는 자료이다.
② 각 호별 인구의 수와 성명, 인적사항이 자세히 기록되었다.
③ 중앙에서 파견된 촌주가 3년마다 이 문서를 작성하였다.
④ 노비의 수는 많지는 않았다.

3. 신라의 돌무지 덧널무덤에 대한 설명으로 바른 것을 모두 고른 것은?

㈀ 나무덧널을 흙으로 덮고, 그 위를 계단식으로 돌로 쌓았다.
㈁ 도굴이 어려운 형태였으며 많은 부장품이 발견되었다.
㈂ 추가 매장이 어려워 주로 단장의 형태를 띠고 있다.
㈃ 6~7세기 경에 주로 유행하였던 무덤이다.

① ㈀ , ㈁ ② ㈁ , ㈂
③ ㈂ , ㈃ ④ ㈀ , ㈁ , ㈂

4. 다음 표의 위치 내용 중 잘못된 것은?

①	서울	석촌동 고분	고구려의 영향을 받았다.
②	서산	마애삼존불	백제의 미소로 불린다.
③	공주	무령왕릉	남조 영향을 받은 벽돌무덤이다.
④	익산	미륵사지 석탑	평제탑으로 불린다.

연표 연습 | 근대 사회

01 ____년 독립신문과 독립협회가 설립되었다.

02	년	조미수호통상조약이 체결되었다.
03	년	영국이 거문도를 불법으로 점령하였다.
04	년	기기창, 전환국, 박문국이 설립되었다.
05	년	만민공동회와 관민공동회가 개최되었다.
06	년	대한국국제가 반포되었다.
07	년	한청통상조약을 체결하였다.
08	년	보안회가 일제 황무지 개간요구를 저지했다.
09	년	신민회가 105인 사건으로 해산되었다.
10	년	남한 대토벌 작전으로 의병을 탄압했다.
11	년	조일무역규칙을 개정하였다.
12	년	동양 척식 주식회사가 설립되었다.
13	년	대구에서 국채보상운동이 시작되었다.
14	년	원산학사와 동문학이 설립되었다.
15	년	메가타 건의로 화폐정리사업이 실시되었다.

Day 02 통일신라의 정치 흐름

1. 다음 각 시기의 상황으로 바르지 못한 것은?

관료전 지급	㈀	성덕왕 즉위	㈁	경덕왕 즉위

① ㈀ : 녹읍이 폐지되었다.
② ㈁ : 정전이 지급되었다.
③ ㈀ : 96각간의 난이 일어났다.
④ ㈁ : 상원사 종이 제작되었다.

2. 다음 사건을 순서대로 바르게 나열한 것은?

㈀ 최치원이 시무10조를 올렸다.
㈁ 독서삼품과를 실시하였다.
㈂ 장보고가 청해진을 설치하였다.
㈃ 김헌창과 김범문이 반란을 일으켰다.

① ㈀ - ㈁ - ㈂ - ㈃
② ㈁ - ㈃ - ㈀ - ㈂
③ ㈁ - ㈂ - ㈃ - ㈀
④ ㈁ - ㈃ - ㈂ - ㈀

3. 신라의 발전과정을 순서대로 바르게 나열한 것은?

㈀ 석굴암과 불국사를 건립하였다.
㈁ 사치금지령을 내렸다.
㈂ 성덕대왕 신종이 만들어졌다.
㈃ 9주 5소경을 정비하였다.

① ㈀ - ㈃ - ㈂ - ㈁
② ㈃ - ㈀ - ㈂ - ㈁
③ ㈃ - ㈀ - ㈁ - ㈂
④ ㈀ - ㈂ - ㈃ - ㈁

4. 다음 사건을 순서대로 바르게 나열한 것은?

㈀ 당 황제에게 만불산을 바쳤다.
㈁ 문무 관료전을 지급하하였다.
㈂ 녹읍을 폐지하였다.
㈃ 96각간의 난이 발생하였다.

① ㈁ - ㈂ - ㈀ - ㈃
② ㈂ - ㈁ - ㈀ - ㈃
③ ㈃ - ㈀ - ㈁ - ㈂
④ ㈃ - ㈁ - ㈀ - ㈂

5. 다음 자료의 각 시기에 대한 설명으로 바르지 못한 것은?

	㈎	㈏	㈐	
마립간 사용	집사부 설치	96각간의 난	신라 멸망	

① ㈎ : 백제와 나제동맹을 맺었다.
② ㈏ : 국학이 설립되었다.
③ ㈐ : 원종과 애노의 난이 발생하였다.
④ ㈐ : 첨성대가 건립되었다.

6. 다음을 순서대로 바르게 나열한 것은?

㈀ 신라는 당의 요청으로 발해를 공격하였다.
㈁ 신라는 국학을 설립하여 유학교육을 강조하였다.
㈂ 고구려 장수 대조영이 발해를 건국하였다.
㈃ 사치 금지령이 반포되었지만 별 효과가 없었다.

① ㈀ - ㈁ - ㈂ - ㈃
② ㈁ - ㈂ - ㈀ - ㈃
③ ㈁ - ㈀ - ㈂ - ㈃
④ ㈂ - ㈁ - ㈃ - ㈀

Weak Point 고대 경제와 사회, 문화

1. 다음 신라의 토지제도를 순서대로 바르게 나열한 것은?

㈀ 녹읍을 폐지하여 귀족을 견제하였다.
㈁ 관료전을 지급하여 토지에 대한 수조권만 지급하였다.
㈂ 백성들에게 정전을 지급하여 왕권을 강화하였다.
㈃ 국학의 경비로 녹읍을 지급하였다.

① ㈀ - ㈁ - ㈂ - ㈃
② ㈁ - ㈀ - ㈃ - ㈂
③ ㈁ - ㈀ - ㈂ - ㈃
④ ㈀ - ㈁ - ㈃ - ㈂

2. 다음 자료에 대한 설명으로 옳지 않은 것은?

이것은 1933년 일본 도다이 사(東大寺) 쇼소인(正倉院)에서 발견된 문서입니다.

① 통일신라의 경제상황을 파악할 수 있는 자료이다.
② 각 호별 인구의 수와 성명, 인적사항이 자세히 기록되었다.
③ 촌주가 매년 조사하고 3년마다 이 문서를 작성하였다.
④ 이 문서를 통해서 각 호별 경제 수준을 파악할 수 있었다.

3. 발해 정효 공주 무덤에 대한 설명으로 바른 것을 모두 고른 것은?

㈀ 중국 길림성 화룡현 용두산에 위치하고 있다.
㈁ 고구려의 힘찬 기상을 볼 수 있는 돌사자상이 발견되었다.
㈂ 묘지명에 "황상"이라는 용어가 사용되었다.
㈃ 고구려 계통의 모줄임 천장구조를 계승하고 있다.

① ㈀ , ㈁
② ㈁ , ㈂
③ ㈀ , ㈁ , ㈂
④ ㈀ , ㈁ , ㈃
⑤ ㈀ , ㈂

3. 다음 고대 지역과 문화에 대한 설명으로 바르지 못한 것은?
① 무령왕릉은 중국 남조의 영향을 받은 벽돌무덤이다.
② 부여 정림사지5층 석탑은 현존 최고의 석탑이다.
③ 서산에서는 백제의 미소라 불리는 마애삼존불상이 발견되었다.
④ 분황사 석탑은 돌을 벽돌모양으로 다듬어 쌓은 탑이다.

연표 연습 근대 사회

1. 다음 사건들을 발생 순서대로 바르게 나열한 것은?

㈀ 원산학사가 설립되었다.
㈁ 국채보상운동이 시작되었다.
㈂ 동양척식주식회가 설립되었다.
㈃ 남한대토벌 작전이 실시되었다.

① ㈀ - ㈁ - ㈂ - ㈃
② ㈀ - ㈁ - ㈃ - ㈂
③ ㈁ - ㈀ - ㈂ - ㈃
④ ㈁ - ㈀ - ㈃ - ㈂

Day 03 통일신라의 정치 흐름 주요 왕들

1. 다음 자료의 시기에 대한 설명으로 바르지 못한 것은?

> 헌덕왕은 상대등이 되었다가 애장왕을 죽이고 즉위하였고, 희강왕은 삼촌이 균정과 싸워 그를 죽이고 왕위에 올랐다. 민애왕도 상대등이 되자 시중 이홍과 함께 난을 일으켜 스스로 왕이 되었다. 이렇듯 이 시기에는 중앙에서 진골귀족들의 왕위 쟁탈전이 발생하여 150년간 20며명의 왕이 교체되었다.

① 선종 불교가 유행하였다.
② 양양 진전사지 3층 석탑이 건립되었다.
③ 국학이 설립되었다.
④ 6두품은 호족과 결탁하기도 하였다.

2. 자료의 왕이 추진한 정책으로 옳은 것은?

> 왕이 1월에 교서를 내려 내외간의 녹읍을 혁파하고 매년 조(組)를 내리되, 차등이 있게 하여 이로써 영원한 법식을 삼았다.

① 독서삼품과를 실시하였다.
② 9주 5소경을 정비하였다.
③ 정전을 지급하였다.
④ 96각간의 난이 발생하였다.

3. 밑줄 친 '과인'의 재위 중 모습으로 옳은 것은?

> 과인이 위로 천지의 도움을 입고 아래로는 종묘의 도움을 얻어 저 사악한 흠돌 등의 꾀를 밝혀냈었는데, 그 죄는 천지가 용납하지 못할 정도이다. …… 지금은 이미 그 요사스런 무리가 깨끗이 제거되어 우환이 없으니 소집하였던 병마는 속히 돌아가게 하라.

① 안승을 경주로 불러들여 진골의 신분을 주었다.
② 고유지명과 관직명을 중국식으로 개칭했다.
③ 건원이라는 독자적인 연호를 사용하였다.
④ 적고적이라는 반란군이 등장하였다.

4. 다음 자료와 관련된 왕에 대한 설명으로 바른 것은?

> 용이 대답하기를, …… "왕이 이 대를 가져다가 피리를 만들어 부시면 천하가 화평할 것입니다. ……."라고 하였다. 왕의 행차가 돌아와 그 대를 가지고 피리를 만들어 월성(月城)의 천존 고방에 간직하였는데, 이 피리를 불면 적병이 물러가고 병이 낫고 가뭄에는 비가 오고 장마가 개고 바람이 자고 파도가 잦아졌으므로 이름을 '거센 물결을 잠재우는 피리(萬波息笛)'라고 하여 국보로 일컬었다.

① 이 시기 대조영은 동모산에 '진'국을 건국하였다.
② 당의 요청으로 발해를 공격하였다.
③ 금마저에서 대문의 난이 발생하자 진압하였다.
④ 갈문왕 제도를 폐지하였다.

5. 다음 시와 관련된 시기의 상황으로 바르지 못한 것은?

> *여우 재주 보이려 미인이 되고,
> *살쾡이 변신해 선비 된다네.
> 그 누가 알려, 짐승의 무리들,
> 사람 탈 쓰고 나타난 것을.
>
> *여우 = 귀족들, 살쾡이 = 벼슬아치나 지식인들

① 선종 불교가 유행하였다.
② 호족들이 군대를 보유하였다.
③ 6두품들은 호족과 결탁하였다.
④ 감은사지 3층 석탑이 건립되었다.

Weak Point 고대 경제와 사회, 문화

1. ㈎~㈑에 대한 설명으로 적절하지 않은 것은?

> • 문무왕 8년 : 김유신에게 ㈎를/을 주었다.
> • 신문왕 7년 : ㈏을 지급하였다.
> • 신문왕 9년 : 내외관의 ㈐를/을 혁파하였다.
> • 성덕왕 21년 : 처음으로 백성에게 ㈑를/을 지급하였다.

① ㈎는 노동력을 징발할 수 있었다.
② ㈏는 수조권만을 지급하였다.
③ ㈐는 고려시대에도 지급되었다.
④ ㈑의 지급으로 왕권이 강화되었다.

2. 다음 신라의 골품제도에 대한 설명으로 바르지 못한 것은?
① 골품제는 중앙집권화시기에 정비되었다.
② 골품제는 지배층을 대상으로 하는 신분제도였다.
③ 6두품들은 신라 중대 집사부의 시중을 역임하였다.
④ 3~1두품은 통일 이후 평민화되었다.

3. 고대 고분에 대한 설명으로 바르지 못한 것은?
① 고구려는 초기에는 사신도와 같은 추상화를 많이 그렸다.
② 신라는 통일 이후 불교의 영향으로 화장을 많이 하였다.
③ 통일신라는 무덤 주변에 둘레돌을 두르고 12지신상을 새겼다.
④ 정혜공주묘는 굴식돌방무덤으로 모줄임천장구조였다.
. 다음 탑에 대한 설명으로 바르지 못한 것은?

> ㈎ 법주사 팔상전
> ㈏ 분황사 모전 석탑
> ㈐ 월정사 8각 9층 석탑
> ㈑ 양양 진전사지 3층 석탑

① ㈎ : 현존 최고의 목탑이다.
② ㈏ : 벽돌탑 양식을 모방하였다.
③ ㈐ : 송의 영향을 받았다.
④ ㈑ : 선종의 영향을 받은 승탑이다.

연표 연습 근대 사회

1. 다음 사건들을 발생 순서대로 바르게 나열한 것은?

㈀	조미수호통상조약이 체결되었다.
㈁	만민공동회가 개최되었다.
㈂	기기창이 설립되었다.
㈃	대한국국제가 반포되었다.

① ㈀ - ㈁ - ㈂ - ㈃
② ㈀ - ㈁ - ㈃ - ㈂
③ ㈀ - ㈂ - ㈁ - ㈃
④ ㈁ - ㈀ - ㈃ - ㈂

Day 04 발해 개관

1. 다음 자료와 관련된 국가에 대한 설명으로 옳지 않은 것은?

① 천통, 인안, 대흥 등의 연호를 사용하였다.
② 9주 5소경으로 지방을 정비하였다.
③ 이불병좌상은 고구려의 영향을 받았다.
④ 926년 거란족의 침입으로 멸망하였다.

2. 밑줄 그은 '이 나라'에 대한 설명으로 옳지 않은 것은?

> 이 탑은 8세기에서 10세기 사이에 건립된 것으로 추정되는 누각식 탑이다. 무덤 위에 벽돌로 탑을 쌓는 것은 <u>이 나라</u>의 독특한 양식이다.

① 사정부와 외사정을 설치하였다.
② 해동성국이라 불렸다.
③ 주자감이라는 국립대학을 설립하였다.
④ 지배층의 다수는 고구려인들이었다.

3. 다음 자료의 국가에 대한 설명으로 바르지 못한 것은?

> 이 나라의 수도였던 상경성은 내성과 외성으로 이루어졌고, 남북을 가로지르는 주작대로가 있었다. 내성은 왕이 거주하는 궁성구와 관아가 있는 황성구로 나뉘었다. 외성 안팎에서는 절터, 집터 등이 발견되었다.

① 무왕 시절 일본과 수교를 맺었다.
② 개국, 대창, 홍제 등의 연호를 사용하였다.
③ 3성 6부를 중심으로 국정을 운영하였다.
④ 왕을 황상으로 칭하기도 하였다.

4. 발해에 대한 설명으로 바르지 못한 것은?
① 발해의 주민 중 다수는 말갈인들이었다.
② 정혜공주묘는 당의 영향을 받은 벽돌무덤이었다.
③ 무왕 시절 당과 충돌하였다.
④ 영광탑과 주작대로는 당의 영향을 받았다.

5. 다음을 반박할 수 있는 근거로 적당하지 않은 것은?

발해 주민의 대부분은 말갈인이기 때문에 발해는 당나라의 지방 정부로서 소수 민족사로 인식되어야 한다.

① 정혜공주묘의 모줄임 천장구조
② 이불병좌상
③ 일본에 보낸 국서
④ 3성 6부

Weak Point 고대 경제와 사회, 문화

1. 다음 토지제도의 변천과정에 대한 설명으로 바른 것을 모두 고른 것은?

㈀ 신라의 관료 귀족에게 경위에 따라서 조, 용, 조를 거둘 수 있는 녹읍이 지급되었다. ㈁ 신라 경덕왕 시절에는 관료 귀족에게 주는 월봉과 녹읍이 부활하였다. ㈂ 고려시대에는 공신들에게 녹읍이 지급되기도 하였다. ㈃ 신라 하대에는 국학의 경비로 녹읍이 지급되었다.

① ㈀ , ㈁ ② ㈀ , ㈂ , ㈃
③ ㈀ , ㈃ ④ ㈁ , ㈂ , ㈃

2. 다음 자료에 등장하는 '설계두'란 인물이 속한 신분 계층에 대한 설명으로 가장 적절한 것은?

설계두가 하루는 친구들과 함께 술을 마시며 자기 뜻을 말하였다. "우리나라에서는 사람을 쓰는 데 먼저 골품을 따진다. 정말 그 족속이 아니면 비록 큰 재주와 뛰어난 공이 있다하더라도 크게 될 수 없다." - 삼국사기 -

① 성주, 장군이라 불렸다.
② 삼국 통일 이후 점차 평민화되었다.
③ 의상과 김대문 등이 대표적인 인물이다.
④ 차관격인 시랑·경에 임명되기도 하였다.

3. 다음 자료의 탑에 대한 설명으로 바른 것은?

신하들이 "백제에서 기술자를 지원받아야 가능하다."라고 하였다. 이에 백제에 보물과 비단을 보내 기술자를 청하니, 아비지가 명을 받고 왔다. - 삼국유사 -

① 기단과 탑신에 불상이 새겨져 있는 신라 하대의 탑이다.
② 자장의 건의로 선덕여왕 시절에 만들어진 목탑이다.
③ 선덕여왕 시절 만들어진 탑으로 신라 현존 최고의 석탑이다.
④ 신문왕 시절 제작되었고, 동서 2기로 되어있다.

4. 고대 탑에 대한 설명으로 바르지 못한 것은?
① 분황사 석탑은 전탑양식을 모방하였다.
② 부여 정림사지 5층 석탑은 평제탑으로 불린다.
③ 미륵사지 석탑은 현존 최고의 탑이다.
④ 황룡사 9층 목탑은 원광의 건의로 만들어졌다.

연표 연습 근대 사회

1. 다음 사건들을 발생 순서대로 바르게 나열한 것은?

㈀	보안회가 일제의 황무지 개간권 요구를 저지하였다.
㈁	신민회가 105인 사건으로 해산되었다.
㈂	영국이 거문도를 불법으로 점령하였다.
㈃	조일 무역 규칙을 개정하였다.

① ㈀ - ㈁ - ㈂ - ㈃
② ㈀ - ㈁ - ㈃ - ㈂
③ ㈃ - ㈂ - ㈁ - ㈀
④ ㈃ - ㈂ - ㈀ - ㈁

Day 05 | 발해 주요 왕들

1. 다음 사건 이후의 상황으로 바르지 못한 것은?

> 10년 뒤에 무예가 대장 장문휴를 파견하여 해적을 거느리고 등주를 치니, 현종은 급히 문예를 파견하여 유주의 군사를 동원시켜 이를 공격하는 한편, 태복경 김사란을 사신으로 신라에 보내어 군사를 독촉하여 발해의 남부를 치게 하였다. 마침 날씨가 매우 추운데다 눈이 한 길이나 쌓여서 군사들이 태반이나 얼어 죽으니, 공을 거두지 못하고 돌아왔다. -신당서-

① 발해군왕에 칭해졌다.
② 중경에서 상경으로 천도했다.
③ 해동성국이라 불렸다 .
④ 대야발의 후손이 왕이 되었다.

2. 밑줄 그은 '황상'에 대한 설명으로 옳은 것은?

> 공주는 대흥 56년(792) 여름 6월 9일 임진일에 사망하니, 나이는 36세였다. 이에 시호를 정효공주라 하였다. 이 해 겨울 11월 28일 기묘일에 염곡의 서쪽 언덕에 배장하였으니, 이것은 예의에 맞는 것이다. 황상은 조회를 피하고 크게 슬퍼하여, 침소에 들어가지 않고 음악도 중지시켰다. ……

① 당나라 산둥반도에 장문휴 장군을 보내 공격하였다.
② 수도를 중경 현덕부에서 상경 용천부로 옮겼다.
③ 해동성국이라 불릴 만큼 전성기를 누렸다.
④ 대부분의 말갈족을 복속하고 요동으로 진출하였다.

3. 다음 자료의 왕이 재위한 시기의 사실로 옳은 것은?

> 발해의 왕이 말하기를 "흑수부말갈이 처음에는 우리에게 길을 빌려 당과 통교하였다. 그런데 지금 당에 관직을 요청하면서 우리에게 알리지 않으니 이는 반드시 당과 함께 우리를 공격하려는 것이다."라고 하였다. 이어 동생 대문예와 외숙부 임아에게 군사를 거느리고 흑수를 공격하도록 명하였다.
> - 구당서 -

① 대조영의 동생 대야발의 후손으로 왕이 되었다.
② 일본과 수교를 맺었다.
③ 신라도라는 상설 교통로를 개통하였다.
④ 동경에서 상경으로 천도를 하였다.

4. 다음 자료의 이 왕에 대한 설명으로 바른 것은?

> 비문에 의하면 공주는 존호가 '대흥보력효감금륜성법대왕'인 발해 제3대 이 왕의 둘째 딸로서, 출가한 뒤 남편이 죽자 수절하다가 777년 4월 14일 40세의 나이로 죽어 정혜라는 시호를 받았으며, 780년 11월 24일에 진릉의 서원에 배장되었다.

① 흑수부 말갈족을 공격하였다.
② '인안'의 연호를 사용하였다.
③ 대야발의 후손으로 왕위를 계승하였다.
④ 불교적 성왕을 칭하였다.

5. 다음 자료는 발해 어느 왕 때 일본이 보낸 국서이다. 이 왕 대의 상황으로 바르지 못한 것은?

> 지금 보내온 국서(國書)를 살펴보니 부왕(父王)의 도를 갑자기 바꾸어 날짜 아래에 관품(官品)을 쓰지 않았고, 글 끝에 천손(天孫)이라는 참람된 칭호를 쓰니 법도에 어긋납니다. 왕의 본래의 뜻이 어찌 이러하겠습니까. (중략) 고씨의 시대에 병난이 그치지 않아 조정의 위엄을 빌려 저들이 형제를 칭하였습니다. 지금 대씨는 일없이 고의로 망령되이 사위와 장인을 칭하였으니 법례를 잃은 것입니다.

① 요동으로 진출하였다.
② 주자감을 설치하였다.
③ 철리부 말갈족을 복속하였다.
④ 신라도를 개설하였다.

Weak Point | 고대 경제와 사회, 문화

1. 다음 신라의 토지제도를 순서대로 바르게 나열한 것은?

> ㈀ 녹읍을 폐지하여 귀족을 견제하였다.
> ㈁ 관료전을 지급하여 토지에 대한 수조권만 지급하였다.
> ㈂ 백성들에게 정전을 지급하여 왕권을 강화하였다.
> ㈃ 국학의 경비로 녹읍을 지급하였다.

① ㈀ - ㈁ - ㈂ - ㈃
② ㈁ - ㈀ - ㈃ - ㈂
③ ㈁ - ㈀ - ㈂ - ㈃
④ ㈀ - ㈁ - ㈃ - ㈂

2. 다음 자료의 규율을 가진 조직에 대한 설명으로 바른 것은?

> 충으로써 임금을 섬긴다.
> 효로써 부모를 섬긴다.
> 믿음으로써 벗을 사귄다.
> 전쟁에 임하여 물러서지 않는다.
> 살생을 가려서 한다.

① 이 조직은 계층 간의 대립과 갈등을 완화하는 데 기여하였다.
② 진골대등들이 참여하였고, 국왕의 폐위시키기도 하였다.
③ 조선시대 조광조가 처음으로 시행하였고, 이후 전국적으로 시행되었다.
④ 초기에는 불교적 신앙단체였으나, 이후 상장을 도와주는 농민 조직으로 발전하였다.

3. ㈎인물에 대한 설명으로 바른 것은?

> • (가)이(가) 당에서 돌아왔다. …… 진성여왕 8년(894)에 시무책 10여조를 올리니 왕이 기쁘게 받고 그를 아찬으로 삼았다.
> • (가)이(가) 중국에 유학하여 얻은 바가 많았다고 생각해서 귀국한 뒤 자기의 뜻을 펴려고 하였다. 그러나 말세여서 의심과 시기가 많아 용납되지 않았다. - 삼국사기 -

① 사산비명을 지었다.
② 계림잡전을 지었다.
③ 외교문서에 능통하였다.
④ 화왕계를 지었다.

4. 다음 글의 인물에 대한 설명으로 옳은 것은?

그는 "세계의 모든 것은 공이다."라는 주장과 "세계의 모든 현상은 식이다."라는 주장을 다 같이 비판하고, 세계는 오직 한 마음이라는 독자적인 견해를 제시하였다.

① <무애가>를 지었다.
② 관음신앙을 강조했다.
③ 당의 현장에게 유식학 배웠다.
④ 왕오천축국전을 지었다.

연표 연습 근대 사회

1. 다음 사건들을 발생 순서대로 바르게 나열한 것은?

㈀	한청통상조약을 체결하였다.
㈁	박문국이 설립되었다.
㈂	화폐정리사업이 시작되었다.
㈃	국채보상운동이 시작되었다.

① ㈁ - ㈀ - ㈃ - ㈂
② ㈁ - ㈀ - ㈂ - ㈃
③ ㈃ - ㈂ - ㈁ - ㈀
④ ㈃ - ㈂ - ㈀ - ㈁

Day 06 고대 통치 조직

1. 다음 고대 국가의 통치 제도에 대한 설명으로 바르지 못한 것은?
① 백제는 성왕 시절에 22부를 설치하였다.
② 고구려는 상수리제도를 실시하였다.
③ 삼국의 지방행정은 군사거점의 성격이 강하였다.
④ 신라 화백회의는 만장일치로 운영되었다.

2. 고대 통치 조직에 대한 설명으로 바르지 못한 것은?
① 고구려는 5부에 욕살, 백제는 5방에 군주를 파견하였다.
② 백제는 6관등 나솔 이상은 자색의 공복과 은화관식을 하였다.
③ 신라는 상수리제도를 실시하였다.
④ 지증왕 시절 아시촌 소경이 설치되었다.

3. 고대 관등제와 통치 조직에 대한 설명으로 바르지 못한 것은?
① 신라는 소경에 군주를 파견하여 지방을 통제하였다.
② 신라인들은 골품에 따라 관등 승진 상한선이 결정되었다.
③ 고구려는 5부에 욕살을 파견하여 지방을 통제하였다.
④ 신라는 법흥왕 시절 17관등이 정비되었다.

4. 신라의 통치제도에 대한 설명으로 바른 것은?
① 6두품들은 집사부의 시랑직을 역임하였다.
② 전국을 9주 5소경으로 정비하였다.
③ 국학을 설립하여 유교 경전을 교육하였다.
④ 지방의 각 주마다 서당을 설치하였다.

5. 다음 자료의 ㈀~㈃에 대한 설명으로 바르지 못한 것은?

통일 이후 신라는 ㈀ 전제 왕권을 확립하기 위해서 ㈁ 중앙 정치 기구와 ㈂ 군사 제도를 정비하였다. 넓어진 영토를 효과적으로 다스리기 위해서 ㈃ 지방 통치 제도를 새롭게 정비하였다.

① ㈀ : 집사부의 기능을 강화시켜 화백회의를 견제하였다.
② ㈁ : 창부와 병부 등을 신설하여 왕권을 강화하였다.
③ ㈂ : 모병으로 구성된 9서당의 중앙군을 정비하였다.
④ ㈃ : 전국을 9주로 나누고 5소경을 두어 지방통제를 강화하였다.

Weak Point 고대 경제와 사회, 문화

1. 다음 신라의 토지제도에 대한 설명으로 바르지 못한 것은?
① 신문왕은 녹읍을 폐지하고 관료전을 지급하여 백성에 대한 국가의 지배력을 강화시켰다.
② 경덕왕 때는 녹읍이 부활되어 국가의 수입이 감소하였다.
③ 신라 중대에는 녹읍과 관료전이 동시에 존재한 적이 있었다.
④ 성덕왕은 월봉을 폐지하고 백성들에게 정전을 지급하였다.

2. 다음 유물이 발견된 무덤에 대한 설명으로 옳은 것은?

영동대장군인 백제 사마왕은 나아가 62세 되는 계묘년 5월 임진일인 7일에 돌아가셨다. 을사년 8월 갑신일인 12일에 안장하여 대묘에 올려 뫼시며, 기록하기를 이와같이 한다.

① 도굴이 어려운 구조로 많은 껴묻거리가 남아있다.
② 무덤 천장이 모줄임 천장구조로 되어있다.
③ 고구려 초기의 장군총의 영향을 받아 만들어졌다.
④ 중국 남조의 영향을 받아 만들어졌다.

3. 다음 인물의 활동으로 옳은 것은?

당에 유학하여 빈공과에 급제하였다. 황소의 난 때 토황소격문을 지어 문장가로서 이름을 떨쳤다.

① 시무10조를 올렸다.
② 한산기를 저술하였다.
③ 불교를 세외교로 비판하였다.
④ 화왕계를 올려 도덕정치를 강조하였다.

4. 다음의 사상을 전파한 이의 업적에 해당하는 것은?

하나가 곧 일체이며, 한 작은 티끌 속에 시방이 있는 것이요. 한 찰나가 곧 영원이다. 양에 있어서 셀 수 없는 것이 있지만 그것은 실은 하나이며 …(중략)… 시간에 있어서 영원한 것도 한 찰나이다.

① 중관파와 유식파의 통합을 강조하였다.
② 인도와 중앙아시아 등지를 여행한 후 기행문을 남겼다.
③ 금산사를 중심으로 미륵신앙을 강조하였다.
④ 진골 출신으로 화엄일승법계도를 저술하였다.

연표 연습 근대 사회

1. 다음 사건들을 발생 순서대로 바르게 나열한 것은?

㈀	동문학이 설립되었다.
㈁	대한국국제가 반포되었다.
㈂	남한대토벌작전이 실시되었다.
㈃	만민공동회가 개최되었다,

① ㈁ - ㈀ - ㈃ - ㈂
② ㈁ - ㈀ - ㈂ - ㈃
③ ㈃ - ㈂ - ㈁ - ㈀
④ ㈃ - ㈂ - ㈀ - ㈁

Day 01 삼국통일 과정

1. 정답 ③
㈁ 김춘추의 고구려 군사 요청 642년 → ㈀ 648년 나당동맹 → ㈃ 안동도호부 설치 : 668년 → ㈂ 소부리주 설치 : 671년

2. 정답 ②
㈃ 648년 나당동맹 체결 → ㈂ 663년 계림도독 임명 → ㈁ 671년 소부리주 설치 → ㈀ 676년 기벌포 전투

3. 정답 ④
㈁ 612년 살수대첩 → ㈂ 631년~646년 천리장성 → ㈀ 670년 안승을 고구려왕 임명 → ㈃ 675년 매소성 전투

4. 정답 ③
㈁ 671년 소부리주 → ㈀ 675년 : 매소성 전투 → ㈃ 676년 : 기벌포 해전 676 → ㈂ 676년 안동도호부의 이동

5. 정답 ①

① 660년 : 황산벌 전투가 벌어졌다.

㈀	663년	백강전투

② 668년 : 안동도호부
③ 670년 : 안승을 고구려왕에 임명하였다.
④ 671년 : 소부리주를 설치하였다.

㈁	675년	매소성 전투

Weak Point 고대 경제와 사회, 문화

1. 정답 ①
㈀ 신문왕 687 - ㈂ 신문왕 689 - ㈁ 성덕왕 722 - ㈃ 경덕왕 757
2. 정답 ④
주어진 자료는 통일신라의 민정문서이다.
① 민정문서는 통일신라의 경제상황이 기록되어 있다.
② 성명과 인적사항은 기록되지 않았다.
③ 촌주는 지방관이 아니었다.
3. 정답 ②
㈀ 나무덧널 위에 돌로 쌓고, 그 위를 흙으로 덮었다.
㈃ 돌무지 덧널무덤은 주로 마립간시대에 만들어졌다. 6~7세기경은 주로 굴식돌방무덤이 유행하였다.
4. 정답 ④
④ X : 익산 미륵사지 석탑이 아니라 부여 정림사지 5층 석탑이 평제탑으로 불렸다.

연표 연습 근대 사회

01	년	독립신문과 독립협회가 설립되었다.
02	년	조미수호통상조약이 체결되었다.
03	년	영국이 거문도를 불법으로 점령하였다.
04	년	기기창, 전환국, 박문국이 설립되었다.
05	년	만민공동회와 관민공동회가 개최되었다.

06	년	대한국국제가 반포되었다.
07	년	한청통상조약을 체결하였다.
08	년	보안회가 일제 황무지 개간요구를 저지했다.
09	년	신민회가 105인 사건으로 해산되었다.
10	년	남한 대토벌 작전으로 의병을 탄압했다.
11	년	조일무역규칙을 개정하였다.
12	년	동양 척식 주식회사가 설립되었다.
13	년	대구에서 국채보상운동이 시작되었다.
14	년	원산학사와 동문학이 설립되었다.
15	년	메가타 건의로 화폐정리사업이 실시되었다.

Day 02 통일신라의 정치 흐름

1. 정답 ③

①	②	③	④
O	O	X	O
신문왕	성덕왕	혜공왕	성덕왕

2. 정답 ④
㈁ 원성왕 - ㉣ 헌덕왕 - ㉢ 흥덕왕 - ㉠ 진성여왕

3. 정답 ②
㉣ 신문왕 - ㉠ 경덕왕 - ㉢ 혜공왕 - ㉁ 헌덕왕

4. 정답 ①
㉁ 687년 신문왕 : 관료전 지급 → ㉢ 689년 신문왕 : 녹읍 폐지 → ㉠ 경덕왕 : 만불산 → ㉣ 혜공왕 : 96각간의 난

5. 정답 ③

①	②	③	④
O	O	O	X
눌지마립간	신문왕	진성여왕	선덕여왕 / ㈎

6. 정답 ②
㉁ 신문왕 ㉢ 효소왕 시절 698년 건국 ㉠ 성덕왕 ㉣ 흥덕왕

Weak Point 고대 경제와 사회, 문화

1. 정답 ③
㉁ 관료전 지급(687년 신문왕) - ㉠ 녹읍 폐지(689년 신문왕) - ㉢ 정전 지급(722년 성덕왕) - ㉣ 국학에 녹읍 지급 (799년 소성왕)

2. 정답 ②
주어진 자료는 통일신라의 민정문서이다.
② 성명과 인적사항은 기록되지 않았다.

3. 정답 ⑤
㈁ 돌사자상은 정혜공주묘의 입구에 있다.
㈃ 정효공주묘는 평행고임구조이며, 정혜공주묘가 모줄임구조였다.

3. 정답 ②
② X : 현존 최고의 석탑은 백제의 익산 미륵사지 석탑이다.

연표 연습 근대 사회

1. 정답 ①

㈀	1883년	원산학사
↓		
㈁	1907년	국채보상운동
↓		
㈂	1908년	동양척식주식회사
↓		
㈃	1909년	남한대토벌 작전

Day 03 통일신라의 정치 흐름 주요 왕들

1. 정답 ④
제시된 자료는 신라 하대의 상황이다.
③ X : 신라 중대 신문왕 때 국학이 설립되었다.

2. 정답 ②
주어진 자료의 국왕은 신문왕이다.

①	②	③	④
X	O	X	X
원성왕	신문왕	성덕왕	혜공왕

3. 정답 ①
밑줄 친 '과인'은 신문왕이다.

①	②	③	④
O	X	X	X
신문왕	경덕왕	법흥왕	진성여왕

4. 정답 ③
주어진 자료는 신문왕의 만파식적이다.

①	②	③	④
X	X	O	X
효소왕	성덕왕	신문왕	무열왕

5. 정답 ④
주어진 자료는 최치원의 '고우'라는 시의 일부로 신라 하대의 상황을 시로 표현한 것이다.

①	②	③	④
O	O	O	X
신라 하대	신라 하대	신라 하대	신라 중대 신문왕

Weak Point 고대 경제와 사회, 문화

1. 정답 ③
㈎ 식읍, ㈏ 관료전, ㈐ 녹읍, ㈑ 정전
③ 녹읍은 고려 초기 폐지되었으며 식읍이 조선 초기에 모두 폐지되었다.
2. 정답 ③
③ X : 6두품들은 신라 중대 집사부의 시랑직을 역임하였다.
3. 정답 ①
① X : 고구려는 초기에는 생활풍속도를 그렸고, 후기에 주로 사신도와 같은 추상화를 그렸다.
4. 정답 ④
④ X : 양양 진전사지 3층 석탑은 신라 하대의 탑이지만, 이 시기에는 선종 불교의 영향을 받은 것은 쌍봉사 철감선사탑 등의 승탑이다.

연표 연습 근대 사회

1. 정답 ③

㈀	1882년	조미수호통상조약
㈂	1883년	기기창
㈁	1898년	만민공동회
㈃	1899년	대한국국제

Day 04 발해 개관

1. 정답 ②
주어진 자료는 발해의 석등과 이불병좌상이다.
② X : 발해가 아니라 통일신라가 9주 5소경으로 지방을 정비하였다.

2. 정답 ①
주어진 자료의 탑은 발해의 영광탑에 대한 설명으로 '이 나라'는 발해이다.
① X : 발해가 아니라 신라가 사정부와 외사정을 설치하였다.

3. 정답 ②
주어진 자료는 발해에 대한 설명이다.
② X : 발해가 아니라 신라 진흥왕이 개국, 대창, 홍제 등의 연호를 사용하였다.

4. 정답 ②
② X : 정혜공주묘가 아니라 정효공주묘가 당의 영향을 받은 벽돌무덤이었다.

5. 정답 ④
주어진 자료는 발해가 말갈의 국가라는 것으로, 이를 반박하기 위해서는 발해가 고구려를 계승하는 국가라는 것을 입증하면 된다.
④ X : 3성 6부는 고구려가 아니라 당의 영향을 받았다.

Weak Point 고대 경제와 사회, 문화

1. 정답 ③
㈁ 경덕왕 시절에는 월봉이 폐지되고 녹읍이 부활되었다. ㈂ 녹읍은 고려 초기에 폐지되었고, 공신들에게 식읍이 지급되었다.
2. 정답 ④
주어진 자료의 '설계두'는 6두품이다.
① 호족에 대한 설명이다.
② 3~1두품에 대한 설명이다.
③ 의상과 김대문은 진골 출신이다.
④ 6두품들은 차관격인 시랑·경에 임명되기도 하였다.
3. 정답 ②
주어진 자료는 선덕여왕 시절 만들어진 황룡사 9층 목탑에 대한 설명이다.

①	②	③	④
X	O	X	X
양양 진전사지 3층 석탑	황룡사 9층 목탑	분황사 모전 석탑	감은사지 3층 석탑

4. 정답 ④
④ X : 황룡사 9층 목탑은 원광이 아니라 자장의 건의로 만들어진 탑으로 고려 몽골 침입 시 소실되었다.

연표 연습 근대 사회

1. 정답 ④

㈃	1883년	조일무역규칙 개정
㈂	1885년 ~ 1887년	거문도 불법 점령
㈀	1904년	보안회
㈁	1911년	105인 사건

Day 05 발해 주요 왕들

1. 정답 ①
주어진 자료는 발해 무왕의 재위 시기의 상황이며 당과 흑수말갈 사이의 직접 교류 시도가 발단이 되어 일어났다.

① 고왕 : 발해군왕

무왕	당의 산둥반도 공격, 장문휴

② 문왕 : 중경에서 상경으로 천도했다.
③ 선왕 : 해동성국이라 불렸다 .
④ 선왕 : 대야발의 후손이 왕이 되었다.

2. 정답 ②
주어진 자료의 밑줄 친 '황상'은 문왕이다.

①	②	③	④
X	O	X	X
무왕	문왕	선왕	선왕

3. 정답 ②
주어진 자료의 발해의 왕은 대무예 무왕이다.

①	②	③	④
X	O	X	X
선왕	무왕	문왕	성왕

4. 정답 ④
주어진 자료는 정혜공주묘비에 대한 설명이며, 정혜공주는 문왕의

둘째딸이다.

①	②	③	④
X	X	X	O
무왕	무왕	선왕	문왕

5. 정답 ①
주어진 자료는 발해에 대한 설명으로 자료의 천손(天孫)은 발해 문왕이 일본에 국서를 보낼 때 자신을 '고려국왕 대흠무'라 칭하며 천손의 자손임을 주장한 것이다.

①	②	③	④
X	O	O	O
선왕	문왕	문왕	문왕

Weak Point 고대 경제와 사회, 문화

1. 정답 ③
㈁ 관료전 지급 : 687년 신문왕 - ㈀ 녹읍 폐지 : 689년 신문왕 - ㈂ 정전 지급 : 성덕왕 - ㈃ 국학 경비 녹읍 지급 : 신라 하대 소성왕
2. 정답 ①
주어진 자료는 신라의 화랑도이다.

①	②	③	④
O	X	X	X
화랑도	화백회의	향약	향도

3. 정답 ①
주어진 자료는 신라 말 최치원에 대한 설명이다.

①	②	③	④
O	X	X	X
최치원	김대문	강수	설총

4. 정답 ①
제시문의 인물은 원효이다.

①	②	③	④
O	X	X	X
원효	의상	원측	혜초

연표 연습 근대 사회

1. 정답 ②

㈁	1883년	박문국

㈀	1899년	한청통상조약

㈂	1905년	화폐정리사업

㈃	1907년	국채보상운동

Day 06 고대 통치 조직

1. 정답 ②
② X : 고구려가 아니라 신라가 상수리제도를 실시하였다.

2. 정답 ①
① X : 백제는 지방에 방령을 파견하였고, 신라가 5주에 군주를 파견하였다.

3. 정답 ①
① X : 신라는 소경에 군주가 아니라 사신을 파견하여 지방을 통제하였다.

4. 정답 ④
④ X : 신라는 지방의 각 주마다 서당이 아니라 정을 설치하였다.

5. 정답 ②
② X : 창부(진덕여왕)와 병부(법흥왕)는 통일 이전에 이미 설치되었다.

Weak Point 고대 경제와 사회, 문화

1. 정답 ④
월봉을 폐지한 것은 경덕왕이다.

2. 정답 ④
주어진 자료는 무령왕릉에 대한 설명이다.
① 돌무지덧널무덤의 특징이다.
② 고구려 굴식돌방무덤의 특징이다.
③ 돌무지무덤인 석촌동고분에 대한 설명이다.
3. 정답 ①
주어진 자료의 인물은 최치원이다.

①	②	③	④
O	X	X	X
최치원	김대문	강수	설총

4. 정답 ④
주어진 자료는 의상에 대한 설명이다.

①	②	③	④
X	X	X	O
원효	혜초	진표	의상

연표 연습 근대 사회

1. 정답 ②

㈀	1883년	동문학

㈃	1898년	만민공동회

㈁	1899년	대한국국제

㈂	1909년	남한대토벌작전