공무원 사회 경제 특강 (4.3 자료)

1. 그림은 X재 시장에서 균형점 a→b로의 변화가 Y재, Z재 시장에 준 영향이다. 이 재화들 간의 관계로 옳은 분석을 <보기>에서 고른 것은?

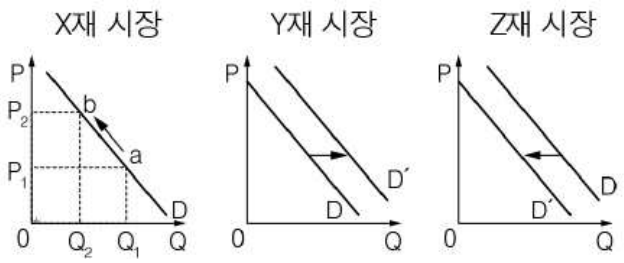

< >

ㄱ. X재와 Y재는 대체 관계이다.
ㄴ. X재에 소비세를 부과하면 Y재의 수요는 증가한다.
ㄷ. Y재와 Z재의 관계는 알 수 없다.
ㄹ. Z재의 가격 상승은 X재의 수요를 증가시킨다.

① ㄱ, ㄴ
② ㄱ, ㄴ, ㄷ
③ ㄴ, ㄷ
④ ㄴ, ㄹ

1. 정답 ②

[해설]

X재 시장에서 가격이 상승하여 수요량이 감소하였는데, Y재의 수요가 증가하였으므로 X재와 Y재는 대제 관계에 있고 X재와 Z재는 보완관계에 있다.

ㄱ. X재와 Y재는 대체 관계이다.

ㄴ. X재에 소비세를 부과하면 X재의 수요는 감소하고 대체 관계에 있는 Y재의 수요는 증가한다.

ㄷ. X재와 Y재는 대체 관계, X재와 Z재는 보완 관계에 있지만 Y재와 Z재의 관계는 알 수 없다.

[오답 피하기]

ㄹ. Z재의 가격 상승은 보완재인 X재의 수요를 감소시킨다.

2. 여러 수요 그래프를 나타낸 것이다. 시장가격이 10% 상승할 경우, 이에 대한 변화를 가장 올바르게 예측한 것은?

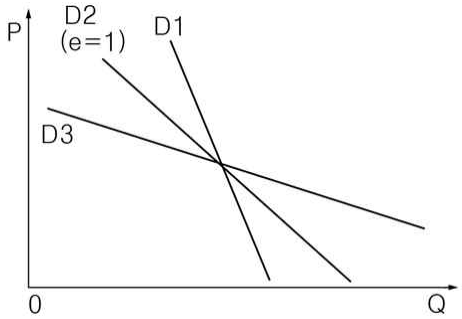

① D1의 거래량은 증가하고 가계 총지출액은 감소한다.
② D2의 거래량과 기업의 총매출액은 변함없다.
③ D3은 가계 총지출과 기업의 총매출 모두 증가한다.
④ D2, D3에 비해 D1은 농산물, 필수재일 가능성이 더 크다.

2. 정답 ④

[해설]

기울기가 완만한 D3은 탄력적, e=1인 D2는 단위 탄력적, D1은 기울기가 급하므로 비탄력적인 재화의 수요 그래프이다.

④ D1은 비탄력적인 재화이므로 농산물, 필수재일 가능성이 더 크다.

[오답 피하기]

① 시장가격이 10% 상승할 경우 수요량은 감소하므로 D1의 거래량은 감소하며, 비탄력적인 재화이므로 가격이 10% 상승 시 가계 총지출액은 증가한다.

② 단위 탄력적인 재화인 D2의 거래량은 10% 만큼 감소하고, 기업의 총매출액은 변함없다.

③ 탄력적인 재화인 D3은 가격 상승 시 가계 총지출과 기업의 총매출 모두 감소한다. 가격 상승률보다 수요량이 더 크게 감소하기 때문이다.

3. 재화 1단위를 소비할 때 마다 소비자에게 a원의 세금을 부과하였을 때 수요가 D_1에서 D_2로 변화하였다. 이에 대한 옳은 분석을 <보기>에서 고른 것은?

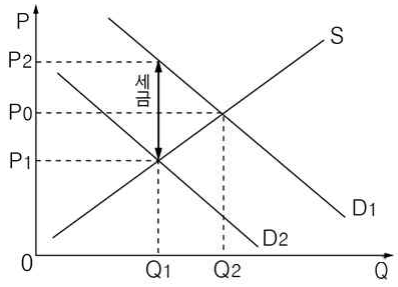

< 보 기 >

ㄱ. 정부의 세금 부과액만큼 시장가격이 상승하였다.
ㄴ. 세금이 부과된 후 소비자가 부담해야 할 금액은 P_1+a이다.
ㄷ. 세금이 부과되자 시장의 규모는 축소되었다.
ㄹ. 정부의 조세수입은 $(P_2-P_1)\times Q1$이다.

① ㄱ, ㄴ ② ㄴ, ㄷ
③ ㄴ, ㄹ ④ ㄴ, ㄷ, ㄹ

4. 표는 지난달 갑의 수업과 지출을 기록한 것이다. 이에 대한 분석으로 옳은 것은?

수입		지출	
월급	300만 원	세금	30만 원
예금 이자	20만 원	사회 보험료	50만 원
주식 배당금	10만 원	생활비	200만 원
		정기 적금	50만 원
계	330만원	계	330만원

※ 사회 보험료 : 국민 연금 제도, 국민 건강 보험 제도 등에 따라 의무적으로 내야 하는 금액

① 비소비 지출은 30만 원이다.
② 처분 가능 소득은 280만 원이다.
③ 수입 중 재산 소득은 30만 원이다.
④ 수입 중 사업 소득에 해당하는 항목이 있다.

3.정답 ④

[해설]

ㄴ. 세금이 부과된 후 소비자가 부담해야 할 금액은 P_2가 되므로 P_1+a이다.
ㄷ. 세금이 부과되자 거래량이 감소하므로 시장의 규모는 축소되었다.
ㄹ. 정부의 조세수입은 단위 당 세금과 거래량의 곱이므로 $(P_2-P_1)\times Q1$이다.

[오답 피하기]

ㄱ. 정부의 세금 부과액보다 더 작게 시장가격이 상승하였다.

4.정답 ③

[해설]

③ 예금 이자와 주식 배당금은 재산 소득에 해당이므로 재산 소득은 30만 원이다.

[오답 피하기]

① 세금과 사회 보험료가 비소비 지출이므로 비소비 지출은은 80만 원이다.
② 처분 가능 소득은 소득에서 비소비 지출은 뺀 값이므로 330-80=250만 원이다.
④ 수입 중 사업 소득에 해당하는 항목은 없다.

5. 표는 갑국의 경상 수지를 나타낸다. 이에 대한 분석으로 옳은 것은?

(단위 : 억 달러)

구분		2016년	2017년
계		50	60
세부항목	상품 수지	50	45
	서비스 수지	-20	-20
	본원 소득 수지	30	40
	이전 소득 수지	-10	-5

① 국가 간 여행, 운송 서비스 거래가 집계되는 세부 항목은 두 해 모두 적자이다.
② 외국인 근로자에게 지급하는 임금이 집계되는 세부 항목은 두 해 모두 적자이다.
③ 2016년의 경상 수지는 갑국의 물가 하락 요인이다.
④ 2017년 갑국의 수출액은 2016년에 비해 5억 달러 증가하였다.

5. 정답 ①

[해설]

① 국가 간 여행, 운송 서비스 거래가 집계되는 세부 항목은 서비스 수지이므로 두 해 모두 적자이다.

[오답 피하기]

② 외국인 근로자에게 지급하는 임금은 본원 소득 수지이다. 본원 소득 수지는 두 해 모두 흑자이다.
③ 2016년의 경상 수지는 흑자이므로 이는 통화량 증가요인으로 갑국의 물가 상승 요인이다.
④ 2017년 갑국의 수출액은 알 수 없다.

6. 밑줄 친 ㉠ ~ ㉣에 대해 잘못 이해하고 있는 학생은?

> ㉠일할 능력과 ㉡일할 의사가 있음에도 불구하고 일자리를 갖지 못한 사람을 실업자라고 한다. 따라서 ㉢12세의 초등학생이 일을 하고 있지 않다고 해서 실업자라고 하지는 않는다. 또한 가사와 양육에 전념하기 위해 ㉣전업주부 생활을 하고 있는 사람도 실업자라고 하지 않는다.

① 갑 : ㉢은 경제 활동 인구에 포함되지 않아.
② 을 : ㉣은 비경제 활동 인구에 포함돼.
③ 병 : ㉠, ㉡ 중 어느 하나라도 없으면 실업자로 분류될 수 없겠군.
④ 정 : ㉢과 달리 ㉣은 취업자로 분류되겠네.

6. 정답 ④

[해설]

④ ㉢은 만 15세 미만자이고, ㉣은 비경제활동인구이므로 모두 취업자가 아니다.

[오답 피하기]

① 만 15세 이상인 사람 중에서 일할 능력과 일할 의사가 있는 사람이 경제활동인구이므로 12세의 초등학생은 경제 활동 인구에 포함되지 않는다.
② 전업주부는 일할 의사가 없으므로 비경제 활동 인구에 포함된다.
③ ㉠, ㉡ 중 어느 하나라도 없으면 경제활동인구가 아니므로 실업자로 분류될 수 없다.

7. 신문 기사에서 밑줄 친 국가의 경제 상황에 대한 분석 및 추론으로 옳지 않은 것은?


○○신문

2017년 △△월 △△일

□□국은 4,000%가 넘는 '초(超)인플레이션'으로 몸살을 앓고 있다. 국제 사회의 경제 제재까지 가중되어 주요 생활필수품의 조달마저 어려워지고 있는 상황이다. … (후략) …

① 물가 급등 현상이 발생하고 있다.
② 자국 화폐의 가치가 상승하고 있다.
③ 자국 화폐의 구매력이 떨어지고 있다.
④ 화폐 자산 소유자가 실물 자산 소유자보다 불리해지고 있다.

7. 정답 ②

[해설]

② 물가상승으로 인하여 자국 화폐의 가치는 하락하고 있다.

8. 신문 기사에 나타날 X재 시장의 변화로 가장 적절한 것은?

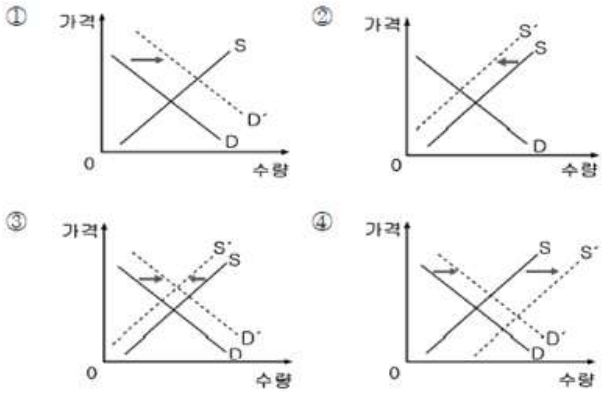

8. 정답 ②

[해설]

② 담뱃세의 부과는 공급 감소 요인이다. 공급 곡선이 좌측으로 이동하고 그 결과 가격은 상승하고 거래량은 감소한다.

9. 그림은 갑국과 을국의 생산 가능 곡선을 나타낸 것이다. 이에 대한 설명으로 옳지 않은 것은? (단, 생산요소는 노동 하나뿐이고 양국에서 투입 가능한 노동의 양은 동일하다고 가정한다.)

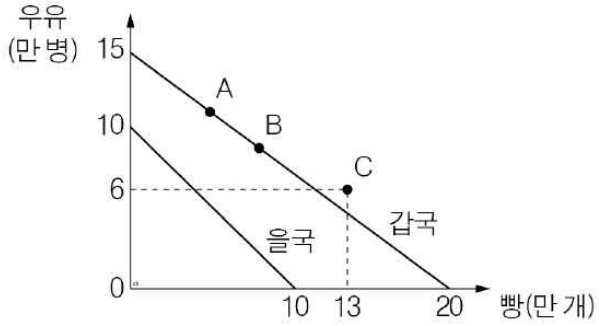

① 갑국은 을국에 비해 두 재화 모두 생산비가 저렴하다.
② 갑국이 생산 조합을 A점에서 B점으로 이동하는 경우, 빵 1개추가 생산에 따른 기회비용은 일정하다.
③ 교역 후 갑국이 C점을 소비하기 위해서는 교역 조건이 빵 1개에 우유 6/7병이어야 한다.
④ 갑국은 양국 간의 교역 조건이 빵 5개에 우유 4병일 경우에는 무역에 응하지 않을 것이다.

9. 정답 ④

[해설]

위의 생산 가능 곡선을 토대로 이를 표로 나타내면 갑국과 을국이 동일한 생산 요소를 투입했을 때 생산가능한 빵과 우유의 생산량과 기회비용은 아래와 같다.

구분	갑국	을국
빵	20 우유 3/4	10 우유 1
우유	15 빵 4/3	10 빵 1

따라서 기회비용이 작은 쪽에 비교 우위가 있으므로 갑국은 빵에 대하여 비교 우위가 있고, 을국은 우유에 대하여 비교 우위에 있다.

④ 갑국이 교역을 통하여 이익을 보기 위해서는 빵 1개 > 우유 3/4병이다. 양변에 5를 곱하면 빵 5개 > 우유 15/4가 된다. 사안에서 양국 간의 교역 조건이 빵 5개에 우유 4병이라고 하였으므로 이는 갑국에게 이익이 되는 교역 조건이 되므로 갑국은 여기에 응할 것이다.

[오답 피하기]

① 동일한 생산 가능요소로서의 노동을 투입했을 때 갑국이 모두 을국에 비하여 빵과 우유에 대하여 절대우위에 있으므로 갑국은 을국에 비해 두 재화 모두 생산비가 저렴하다고 할 수 있다.
② 생산가능 곡선이 직선일 경우에는 직선 상의 어느지점에서든 직선상의 점으로 이동할 때 기회비용은 일정하다. 따라서 갑국이 생산 조합을 A점에서 B점으로 이동하는 경우, 빵 1개추가 생산에 따른 기회비용은 일정하다.
③ 갑국은 빵에 대하여 비교우위에 있으므로 빵에 대하여 특화하여 생산하면 (빵, 우유) = (20, 0)이된다. (20, 0)에서 (13, 6)이 되기 위해서는 빵을 7개 을국에 수출하고 우유를 6개 수입해야 한다. 따라서 빵과 우유의 교환비율은 7:6이어야 한다.

빵 : 유유 = 7 : 6 ⇒ 빵 : 유유 = 1 : 6/7

따라서 갑국이 C점을 소비하기 위해서는 교역 조건이 빵 1개에 우유 6/7병이어야 한다.

10. 그림은 자산 관리의 기본 원칙에 따라 금융 상품을 구분한 것이다. 이에 대한 옳은 판단을 고르면?

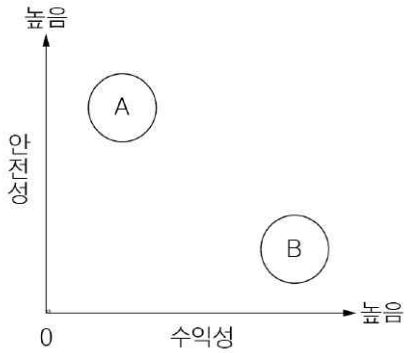

① 주식은 A에 해당한다.
② 정기 적금은 B에 해당한다.
③ 원금 손실의 가능성은 B보다 A가 크다.
④ 노년기에는 B보다 A에 자산을 배분하는 것이 바람직하다.

10. 정답 ④

[해설]

·A는 안전성이 높은 반면 수익성이 낮은 금융 상품으로 예금 등이 이에 해당할 수 있다. 반면 B는 안전성은 낮지만 수익성은 높은 금융 상품으로 주식이나 펀드 등이 여기에 해당한다.

④ 노년기에는 소득보다는 소비가 많은 생애 구간이므로 수익성보다는 안전성이 높은 금융상품에 대한 투자가 적합하다.

[오답 피하기]

① 주식은 B에 해당한다.
② 정기 적금은 예금의 일종으로 A에 해당한다.
③ 안전성이 낮은 상품은 원금 손실의 가능성이 높다. 따라서 원금 손실의 가능성은 A보다 B가 크다.

11. 그림은 관세 부과의 효과를 설명하기 위한 것이다. 관세 부과 이후의 변화에 대한 설명으로 옳은 것을 두개 고르면?

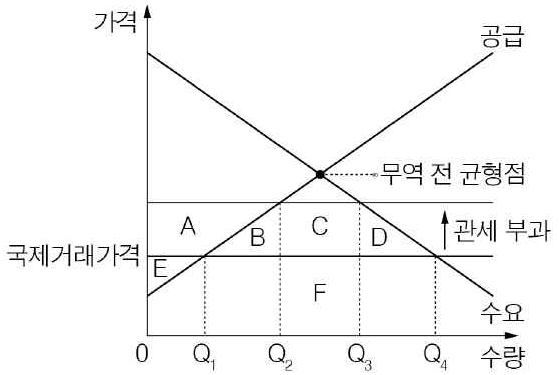

① 국내 공급량은 Q_1Q_2만큼 증가하게 된다.
② 생산자 잉여는 E만큼 증가하게 된다.
③ 국내 소비량은 Q_2Q_3만큼 감소하게 된다.
④ 소비자 잉여는 B만큼 감소하게 된다.
⑤ 정부의 관세 수입은 C만큼 확보하게 된다.
⑥ 관세 부과의 효과로 B+C+D 만큼의 사회적 손실이 발생한다.

11. 정답 ①, ⑤

[해설]

① 관세 부과 전 자유 무역에서의 국내 공급은 Q_1이었지만, 관세 부과 후 국내에서의 가격 상승으로 인하여 국내 공급은 Q1에서 Q2만큼 증가하게 된다.

⑤ 기존의 수입되던 양은 Q_1Q_3이었지만 관세 부과 후 국내 공급은 Q_1Q_2만큼 증가하고, 소비가 Q_3Q_4만큼 줄어들어 수입품의 양은 Q_2Q_3만큼이 된다. 관세 부과 후의 가격에서 기존의 국제 거래기격을 뺀 값이 관세이므로 정부의 관세 수입은 관세 가격×Q_2Q_3이다. 따라서 정부의 관세 수입은 C만큼 확보하게 된다.

[오답 피하기]

② 관세 부과 전 생산자 잉여는 E였으나 관세 부과 후 생산자 잉여는 A 만큼 증가하여 A+E가 된다.

③ 관세 부과 후 기존의 국내 소비량은 Q_4이었으나 관세 부과 후 Q_3으로 줄어들게 된다. 따라서 관세 부과 후 국내 소비량은 Q_3Q_4만큼 감소하게 된다.

④ 관세 부과 전 소비자 잉여는 위의 그림에서 y측과 국제 거래 가격, 수요 곡선으로 둘러싸인 삼각형이었지만 관세 부과로 가격이 상승되어 A+B+C+D만큼 감소하게 된다.

⑥ 관세 부과의 효과로 B+D 만큼의 사회적 손실이 발생한다. C는 정부의 관세 수입이 된다.

12. 신문 기사에 나타날 X재 시장의 변화로 가장 적절한 것은?

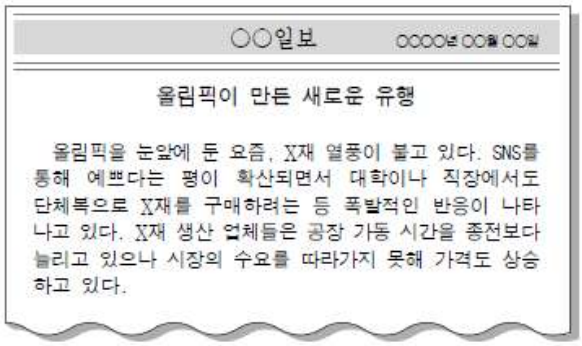
○○일보 ○○○○년 ○○월 ○○일

올림픽이 만든 새로운 유행

올림픽을 눈앞에 둔 요즘, X재 열풍이 불고 있다. SNS를 통해 예쁘다는 평이 확산되면서 대학이나 직장에서도 단체복으로 X재를 구매하려는 등 폭발적인 반응이 나타나고 있다. X재 생산 업체들은 공장 가동 시간을 종전보다 늘리고 있으나 시장의 수요를 따라가지 못해 가격도 상승하고 있다.

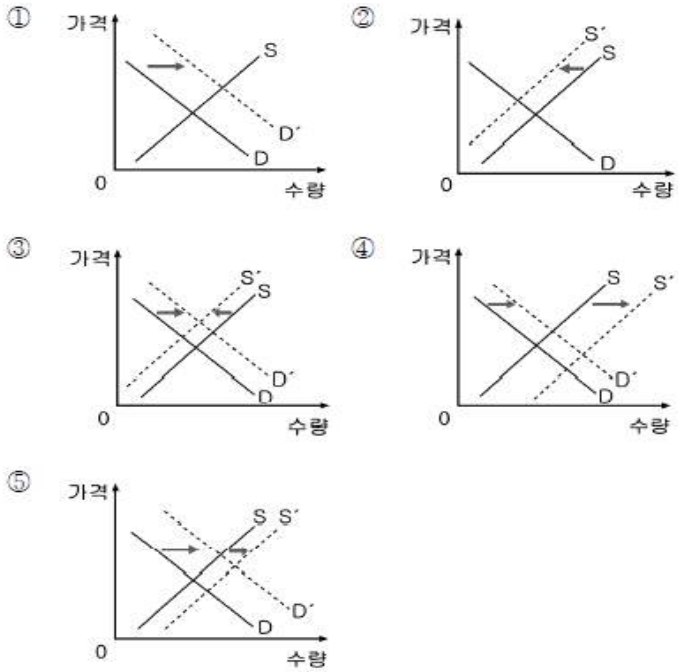

12. 정답 ⑤

[해설]

⑤ X재 수요 증가, X재 공급 증가가 동시에 나타난다. 공장 가동 시간을 늘리고 있으나 시장의 수요를 따라가지 못한다는 점에서 수요 증가 폭이 공급 증가 폭보다 크다는 것을 알 수 있다.

13. X ~ Z재는 연관재이다. 그림에 나타난 X ~ Z재의 관계와 Z재의 거래량을 옳게 짝지은 것은?

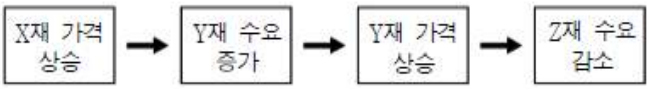

	X재와 Y재	Y재와 Z재	Z재의 거래량
①	보완 관계	보완 관계	감소
②	대체 관계	대체 관계	증가
③	대체 관계	보완 관계	감소
④	보완 관계	대체 관계	증가

13. 정답 ③

[해설]

③ X재 가격이 상승했을 때 Y재 수요가 증가하면 X재와 Y재는 대체 관계이다. Y재 가격이 상승했을 때 Z재 수요가 감소하면 Y재와 Z재는 보완 관계이다. Z재의 수요가 감소하면 거래량은 감소한다.

14. 다음 자료에 대한 분석으로 옳지 않은 것은?

그림은 X재 시장의 수요와 공급을 나타낸다. 정부는 X재 생산자에게 개당 20원의 세금을 부과하는 정책을 시행하고자 한다.

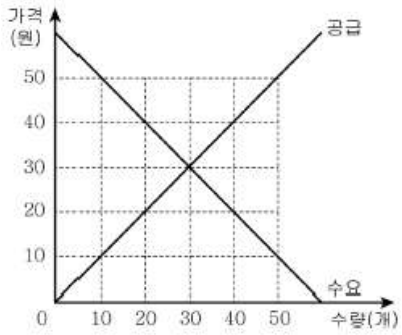

① 정책 시행 이전 균형 가격은 30원이다.
② 정책 시행 후 공급 곡선은 왼쪽으로 이동한다.
③ 정책 시행 후 거래량은 20개이다.
④ 정책 시행 후 생산자 잉여는 200원만큼 감소한다.

14. 정답 ④

④ 정책 시행 후 생산자 잉여는 250원만큼 감소한다.

[오답 피하기]

①, ②, ③ 정책 시행 이전 시장 균형 가격은 30원에서 형성되나, 정책 시행 이후에는 공급 곡선이 왼쪽으로 이동하여 균형 가격이 40원, 균형 거래량느 20개에서 형성된다.

15. 다음 표는 배제성과 경합성에 따라 경제재를 구분한 것이다. 이에 대한 설명으로 옳은 것은?

구분		A	
		있다.	없다.
B	있다.	(가)	공유 자원
	없다.	(나)	(다)

① A는 배제성, B는 경합성이다.
② (가)에 해당되는 재화는 대가를 지불하지 않아도 소비할 수 있다.
③ (나)와 (다)에 해당되는 재화는 무임승차의 문제가 발생한다.
④ (다)에 해당되는 재화는 한 사람의 소비가 다른 사람의 소비 가능성을 감소시킨다.

16. 그림은 갑과 을의 생산 가능 곡선을 나타낸다. 이에 대한 설명으로 옳은 것은?

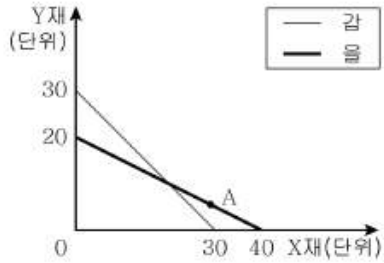

① 갑은 X재 생산에 절대 우위를 가지고 Y재에 비교 우위를 갖는다.
② 을은 X재 20단위와 Y재 20단위를 동시에 생산할 수 있다.
③ A점은 갑과 을 모두 생산 가능한 지점이다.
④ Y재 1단위 생산의 기회비용은 갑이 을보다 작다.

15. 정답 ①

[해설]

① A는 배제성, B는 경합성이다. 공유 자원은 배제성이 없고 경합성이 있다.

[오답 피하기]

② (가)는 배제성이 있으므로 대가를 지불해야 소비할 수 있다.
③ 무임승차의 문제는 배제성이 없는 재화에서 나타난다.
④ (다)는 경합성이 없으므로 한 사람의 소비가 다른 사람의 소비 가능성을 감소시키지 않는다.

16. 정답 ④

④ Y재 1단위 생산의 기회비용은 갑은 X재 1단위, 을은 X재 2단위이므로 갑이 을보다 작다.

[오답 피하기]

① 갑은 Y재 생산에 절대 우위와 비교 우위를 갖는다.
② 을이 Y재 20단위를 생산하면 X재를 생산할 수 없다.
③ A점은 갑에게는 생산 불가능한 지점이다.

17. 표는 X재의 가격에 따른 수요량과 공급량을 나타낸다. 이에 대한 설명으로 옳은 것은? (단, X재는 수요와 공급의 법칙을 따른다.)

가격(원)	100	200	300	400	500
수요량(개)	50	40	30	20	10
공급량(개)	5	15	25	35	45

① 가격이 200원일 때 초과 공급량은 25개이다.
② 가격이 300원일 때 판매 수입은 400원일 때보다 많다.
③ 가격이 100원일 때 시장 거래량은 500원일 때보다 많다.
④ 사회적 잉여를 극대화하는 가격은 300원과 400원 사이에서 결정된다.
⑤ 모든 가격 수준에서 공급량이 5개씩 증가할 때 균형 가격은 400원이다.

17. 정답 ④

[해설]

④ 수요량과 공급량이 일치하여 시장 균형이 형성되는 가격은 300원과 400원 사이에서 결정된다.

[오답 피하기]

① 가격이 200원일 때 초과 수요량이 25개이다.
② 가격이 300원일 때의 판매 수입은 7,500원, 가격이 400원일 때의 판매 수입은 8,000원이다.
③ 100원일 때 시장 거래량은 5개, 500원일 때 시장 거래량은 10개이다.
⑤ 모든 가격 수준에서 공급량이 5개씩 증가할 때 균형 가격은 300원이다.

18. 다음 대화에 대한 옳은 분석을 <보기>에서 고른 것은?

갑 : 담배를 피우지 않는 사람도 흡연자와 함께 있으면 간접 흡연으로 인해 건강에 해로운 영향을 받습니다.
을 : 간접 흡연 문제의 해결을 위해 흡연량을 줄여야 합니다. 이를 위해서는 담뱃세를 부과해야 합니다.
병 : 세금을 부과하여 담배 가격을 인상해도 흡연 욕구를 억제하기 어렵기 때문에 담뱃세 부과의 효과가 작습니다.

<보기>

ㄱ. 갑은 소비로 인한 외부 불경제의 사례를 제시하였다.
ㄴ. 을은 수요량 억제를 위한 최고 가격제의 시행을 주장한다.
ㄷ. 병은 담배 가격의 변화율이 수요량의 변화율보다 더 크다고 본다.
ㄹ. 병은 담배 가격 인상으로 갑이 우려하는 문제의 해결 가능성이 높아진다고 본다.

① ㄱ, ㄴ ② ㄱ, ㄷ
③ ㄴ, ㄷ ④ ㄴ, ㄹ

18. 정답 ②

ㄱ. 담배로 인한 간접 흡연은 소비 측면의 외부 불경제의 사례이다.
ㄷ. 병은 담배의 수요가 가격에 대해 비탄력적이라고 본다.

[오답 피하기]

ㄴ. 조세 부과는 가격 규제 정책이 아니다.
ㄹ. 병은 담뱃세 부과의 효과가 작다고 보기 때문에 갑이 우려하는 문제의 해결 가능성이 높아진다고 보기 어렵다.

19. 그림에 대한 분석으로 옳은 것은?

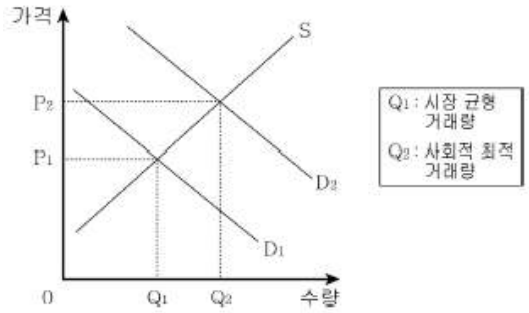

① 생산 측면의 외부 경제를 나타낸다.
② 시장 가격이 사회적 최저 수준의 가격보다 높다.
③ D_1은 사회적 편익 D_2는 사적 편익을 반영한 수요 곡선이다.
④ 사회적 최저 수준에 비해 과소 소비의 문제가 발생한다.

19. 정답 ④

[해설]

④ 사회적 최적 수준보다 적은 수준에서 소비된다.

[오답 피하기]

① 소비 측면의 외부 경제에 관한 그래프
② P_1은 시장 균형 가격, P_2는 사회적 최적 수준의 가격이므로 사회적 최적 수준의 가격이 더 높다.
③ D_1은 사적 편익, D_2는 사회적 편익을 나타낸다.

20. 밑줄 친 ㉠이 X재 시장에 미치는 영향에 대한 옳은 분석을 <보기>에서 고른 것은?

그림은 X재 시장의 수요와 공급을 나타낸 것이다. 정부는 ㉠X재의 최고 가격을 300원으로 규제하고자 한다.

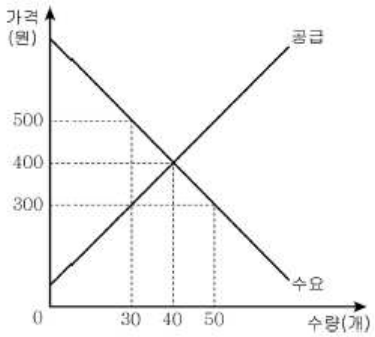

< 기>

ㄱ. 20개의 초과 수요가 발생한다.
ㄴ. X재의 판매액은 15,000원이다.
ㄷ. 사회적 잉여는 1,000원만큼 감소한다.
ㄹ. 생산자 잉여는 3,000원만큼 감소한다.

① ㄱ, ㄴ ② ㄱ, ㄷ ③ ㄴ, ㄷ
④ ㄴ, ㄹ ⑤ ㄷ, ㄹ

20. 정답 ②

ㄱ. 정부가 300원으로 가격을 규제하면 수요량이 증가하고 공급량이 감소하여 20개(50개-30개)의 초과 수요가 발생한다.
ㄷ. 가격 규제 정책으로 거래량이 감소하므로 사회적 잉여는 1,000원만큼 감소한다.

[오답 피하기]

ㄴ. 가격 규제 이후 거래량은 30개이므로 판매액은 9,000원이다.
ㄹ. 가격 규제 이후 생산자 잉여는 3,500원만큼 감소한다.

21. 갑~병의 대화를 통해 추론할 수 있는 내용으로 옳은 것은? (단, 제시된 내용 이외에 다른 요소는 고려하지 않는다.)

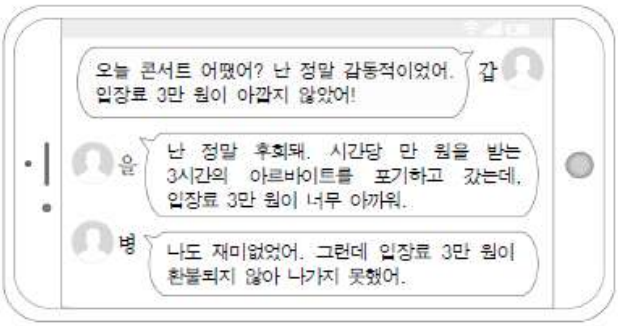

① 갑이 기대한 콘서트 관람 편익은 3만 원보다 적다.
② 을의 콘서트 관람의 기회비용은 3만 원보다 적다.
③ 을이 콘서트 관람을 위해 지출한 명시적 비용은 3만 원이다.
④ 갑~병 모두에게 입장료는 암묵적 비용이다.

21. 정답 ③

[해설]

③ 을이 콘서트 관람을 위해 지출한 명시적 비용은 입장료 3만 원이다.

[오답 피하기]

① 갑이 기대한 편익은 3만 원보다 크다.
② 을이 콘서트 관람 여부를 결정할 때 고려한 기회비용은 3만 원보다 크다.
④ 환불되지 않는 입장료는 회수할 수 없는 매몰 비용이다. 또 을의 경우는 아르바이트 3시간 포기로 발생한 3만 원은 암묵적 비용이다.

22. 그림은 X재의 가격 상승에 따른 판매 수입의 변화를 나타낸 것이다. 이에 대한 옳은 분석을 <보기>에서 고른 것은?

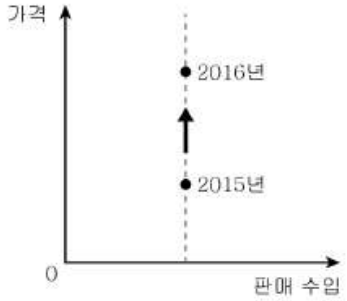

< 기>

ㄱ. X재 소비자의 총지출액은 증가했다.
ㄴ. 2015년의 수요량이 2016년보다 더 많다.
ㄷ. X재 수요의 가격 탄력성이 단위 탄력적이다.
ㄹ. X재 소비자는 가격과 관계없이 항상 일정한 양을 소비한다.

① ㄱ, ㄴ　　② ㄱ, ㄷ
③ ㄴ, ㄷ　　④ ㄴ, ㄹ

22. 정답 ③

[해설]

X재의 가격 상승에 따른 판매 수입의 변화를 2015년과 2016년을 비교해 보면 가격이 상승했으나, 판매 수입은 불변이다. 가격 상승률과 판매량(수요량) 감소율이 동일하다는 것을 추론할 수 있다.

ㄴ. 2015년보다 2016년의 가격이 상승했으나 판매 수입이 그대로이므로 수요량이 감소했음을 알 수 있다.
ㄷ. 가격 상승률과 수요량 감소율이 동일하므로 X재는 단위 탄력적인 재화이다.

[오답 피하기]

ㄱ. 판매 수입과 소비자의 총지출액은 동일하다.
ㄹ. 가격과 관계없이 항상 일정한 양을 소비하는 것은 완전 비탄력적인 재화이다.

23. 민간 경제 주체 A, B에 대한 옳은 설명을 <보기>에서 고른 것은?

시장의 유형 / 경제적 역할	생산 요소 시장	생산물 시장
수요자	A	B
공급자	B	A

< >

ㄱ. A는 기업, B는 가계이다.
ㄴ. A는 사회 후생의 극대화를 추구한다.
ㄷ. B는 효용의 극대화를 추구한다.
ㄹ. B는 생산 요소 시장에 임금, 이자 등을 지불한다.

① ㄱ, ㄴ ② ㄱ, ㄷ
③ ㄴ, ㄷ ④ ㄴ, ㄹ

23. 정답 ②
[해설]
ㄱ. A는 기업, B는 가계이다.
ㄷ. 가계는 효용의 극대화를 추구한다.
[오답 피하기]
ㄴ. 기업은 이윤의 극대화를 추구한다.
ㄹ. 가계는 생산 요소 시장에서 임금, 이자 등을 지급받는다.

24. 그림은 갑과 을이 예상한 X재 시장 균형점의 이동 방향을 나타낸다. 이에 대한 설명으로 옳은 것은? (단, X재는 정상재이다.)

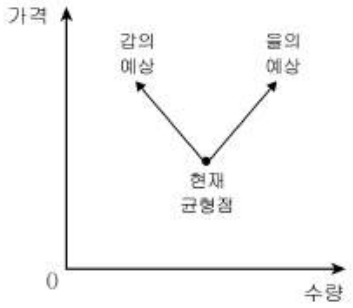

① 갑은 거래량이 증가할 것으로, 을은 감소할 것으로 예상한다.
② 대체재 가격이 하락하면 갑이 예상한 방향으로 이동한다.
③ 소비자의 선호가 증가하면 을이 예상한 방향으로 이동한다.
④ 보완재 가격이 상승하고 생산 기술이 향상되면 갑이 예상한 방향으로 이동한다.

24. 정답 ③
[해설]
갑과 을은 모두 가격이 상승한다고 예상한다. 거래량에 대해 갑은 감소, 을은 증가한다고 예상한다. 소비자의 선호가 증가하면 수요가 증가하므로 가격이 상승하고 거래량이 증가한다.
[오답 피하기]
① 갑은 거래량이 감소하고, 을은 거래량이 증가할 것으로 예상한다.
② 대체재의 가격이 하락하면 수요가 감소한다.
④ 보완재의 가격이 상승하면 수요가 감소하고, 생산 기술이 향상되면 공급이 증가한다.
⑤ 소득이 감소하면 수요가 감소하고 공급자의 수가 감소하면 공급이 감소한다.

25. 다음 자료에서 밑줄 친 ㉠의 원인에 대한 추론으로 가장 적절한 것은?

> 우리는 명절에 정성을 담은 선물을 주고 받는다. 비누, 양말부터 농수산물, 과일 등에 이르기까지 인기 있는 품목은 명절마다 가격이 오른다. 그런데 비누, 양말 등의 공산품에 비해 생선이나 과일 등 ㉠농수산물의 가격은 더 크게 상승한다. 그 이유는 상품의 특성상 생산에 필요한 시간이 길고, 오랜 기간 저장하기 어려워 가격 변화에 대한 유연한 대응이 곤란하기 때문이다.

① 농수산물의 대체재가 공산품보다 많다.
② 농수산물의 공급량이 공산품보다 많다.
③ 농수산물의 공급이 공산품보다 가격에 대해 비탄력적이다.
④ 공산품 생산의 기회비용이 농수산물보다 크다.

25. 정답 ③

[해설]

③ 농수산물의 생산은 가격의 변화에 유연하게 대응하기 어렵기 때문에 공급의 가격 탄력성이 비탄력적이다.

[오답 피하기]

① 대체재의 수가 많을 경우 수요의 가격 탄력성은 탄력적이다.

26. 그림은 갑국의 조세 제도 (가), (나)를 나타낸다. 이에 대한 설명으로 옳은 것은?

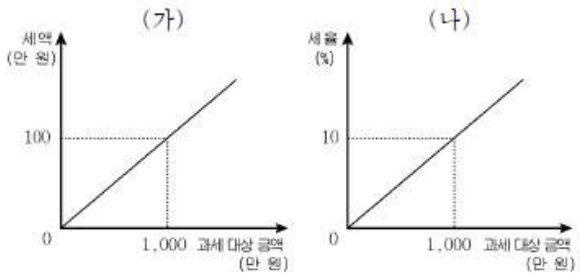

① (가)는 비례세율, (나)는 누진세율이 적용된다.
② (가)에서 과세 대상 금액이 클수록 세율이 증가한다.
③ 과세 대상 금액이 1,000만 원을 초과할 때 적용되는 세율은 (나)보다 (가)에서 높다.
④ 과세 대상 금액이 2,000만 원일 때 세액은 (가), (나)에서 동일하다.

26 정답 ①

[해설]

① 비례세는 과세 대상 금액에 관계없이 일정한 세율을 적용하고, 누진세는 과세 대상 금액이 많을수록 세율이 높아지는 조세 체계이다. 따라서 (가)는 비례세, (나)는 누진세이다.

[오답 피하기]

② 비례세는 과세 대상 금액이 커지더라도 세율은 동일하다.
③ 과세 대상 금액이 1,000만 원을 초과할 때 적용되는 세율은 (나)가 (가)보다 높다.
④ 과세 대상 금액이 2,000만 원일 때 세액은 (나)가 (가)보다 크다.

27. 그림에 대한 설명으로 옳지 않은 것은?

◎ 주제 : 경제 활동의 유형과 사례

유형	의미	사례
소비	(가)	같은 친구를 만나 맛있는 팥빙수를 사 먹었다.
A	경제적으로 가치가 있는 재화나 서비스를 만들어 내거나 그 가치를 증대시키는 활동이다.	(나)
B	생산 요소를 제공하여 생산에 기여한 대가를 받는 활동이다.	(다)

① A는 분배, B는 생산이다.
② 소비는 A를 지속하게 하는 원동력이 된다.
③ (가)에는 '재화와 서비스를 사용하여 만족감을 얻는 활동이다.'가 들어갈 수 있다.
④ (나)에는 '○○유통은 생선을 냉동 보관하는 서비스를 제공했다.'가 들어갈 수 있다.
⑤ (다)에는 '△△기업이 근로자에게 임금을 지급했다.'가 들어갈 수 있다.

27. 정답 ①

[해설]

① A는 생산이고, B는 분배이다. 생산은 경제적 가치를 창출하는 활동, 분배는 경제적 가치를 창출하는 데 기여한 경제 주체가 그 성과를 나누어 갖는 활동이다.

28. 다음 자료에 대한 설명으로 옳지 않은 것은?

음식에는 궁합이 있다. 예를 들어 표고버섯은 돼지고기의 콜레스테롤이 체내에 흡수되는 것을 억제시키고 누린내를 없애 주기 때문에 돼지고기와 같이 먹는 것이 좋다. 표고버섯 대신에 느타리버섯을 돼지고기와 같이 먹어도 좋다.

① 돼지고기와 표고버섯은 보완 관계이다.
② 표고버섯과 느타리버섯은 대체 관계이다.
③ 돼지고기의 수요가 감소하면 표고버섯의 수요는 감소한다.
④ 돼지고기의 수요가 감소하면 느타리버섯의 가격은 상승한다.

28. 정답 ④

[해설]

④ 표고버섯과 돼지고기, 느타리버섯과 돼지고기는 보완재 관계이고, 표고버섯과 느타리버섯은 대체재 관계이다. 돼지고기의 수요가 감소하면 돼지고기의 가격 하락과 거래량 감소로 보완재인 느타리버섯의 수요가 감소한다. 따라서 느타리버섯의 가격은 하락한다.

[오답 피하기]

① 돼지고기와 표고버섯은 같이 먹으면 좋은 보완 관계이다.
② 표고버섯 대신에 돼지고기와 같이 먹어도 좋은 느타리버섯은 표고버섯과 대체재 관계이다.
③ 돼지고기의 수요가 감소하면 돼지고기의 가격 하락과 거래량 감소로 보완재인 표고버섯의 수요는 감소한다.

29. 다음은 X재의 가격과 판매 수입을 나타낸 것이다. X재와 대체재 관계인 Y재의 가격이 상승할 때, E에서 X재의 변화 방향으로 옳은 것은? (단, X재는 수요의 법칙과 공급의 법칙을 따른다)

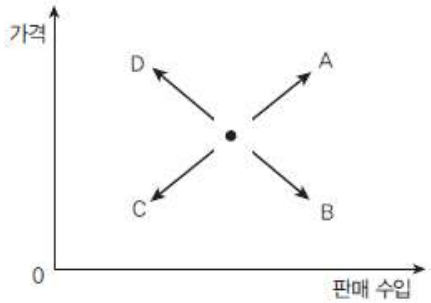

① A ② B
③ C ④ D

29. 정답 ①

[해설]

X재와 대체재 관계에 있는 Y재의 가격이 상승할 경우 X재의 수요는 증가한다. X재의 수요 증가로 X재의 가격이 상승하고 거래량이 증가하기에 X재의 판매 수입은 증가한다.

30. (가)와 (나)에 대한 설명으로 옳지 않은 것은?

(가) 어떤 기업이 생산 과정에서 개발한 '기술 파급 효과가 매우 큰 기술'은 그 기업뿐 아니라 다른 여러 산업 분야에도 쉽게 응용되어 사용된다. (나) ○○아파트 인근에는 매연을 배출하는 공장이 있다. 이로 인해 이 아파트 주민들은 다른 지역보다 기관지 질환을 더 많이 앓고 있다. 그럼에도 불구하고 공장주는 이에 대한 대가를 지불하지 않는다.

① (가)와 달리 (나)는 부정적 외부 효과를 발생시킨다.
② (가)와 (나) 모두 사적 비용이 사회적 비용보다 큰 경우이다.
③ (가)에서 개발된 기술에 대해 특허권을 부여하여 장려하는 것이 바람직하다.
④ (나)에서 나타난 문제는 매연 배출에 대한 세금 부과를 통해 해결 할 수 있다.

30. 정답 ②

[해설]

'기술 파급 효과가 매우 큰 기술 개발'은 생산 측면의 외부 경제이다. 매연을 배출하는 공장으로 인해 아파트 주민들이 기관지 질환을 더 많이 앓고 있는 것은 생산 측면의 외부 불경제이다.

② (가)는 생산 측면의 외부 경제로, 사적 비용이 사회적 비용보다 큰 경우이다. (나)는 생산 측면의 외부 불경제로, 사적 비용보다 사회적 비용이 큰 경우이다.

[오답 피하기]

① (가)는 생산 측면의 외부 경제이고, (나)는 생산 측면의 외부 불경제이다.
③ (가)는 생산 측면의 외부 경제로 사회적 최적 수준보다 적게 생산되므로 개발된 기술에 대해 특허권을 부여하여 장려하는 것이 바람직하다.
④ (나)는 생산 측면의 외부 불경제로 사회적 최적 수준보다 많이 생산된다. 따라서 매연 배출에 대한 세금 부과를 통해 해결할 수 있다.

※ [31 ~ 32] 다음 자료를 보고 물음에 답하시오.

그림은 자유 무역 전후의 갑국과 을국의 X재 시장 상황을 나타내고 있다.
• 자유 무역 전: 갑국은 P1에서, 을국은 P2에서 국내 가격 결정
• 자유 무역 후: P0에서 국제 가격 결정
(단, X재의 품질은 동질이고 교역에 따른 거래 비용은 없으며, 갑국과 을국의 두 나라만 존재한다고 가정한다. 가격은 P1 > P0 > P2이다)

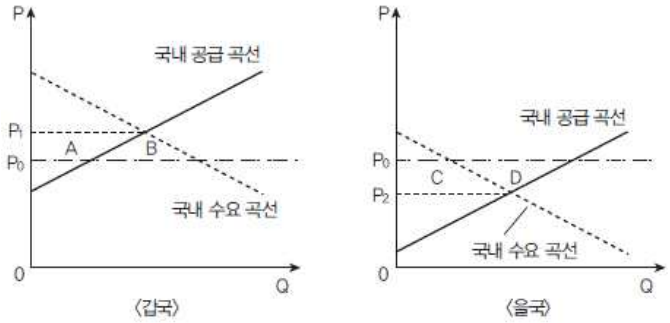

31. 자유 무역 후 갑국과 을국의 X재 시장 상황의 변화에 대한 설명으로 옳은 것은?
① 갑국은 X재 수출국, 을국은 X재 수입국이다.
② 갑국은 국내 수요량이 감소하고, 국내 생산량이 증가한다.
③ 을국은 국내 수요량이 증가하고, 국내 생산량이 감소한다.
④ 국제 가격 P0는 수입량과 수출량이 같아질 때 결정된다.

정답 ④
[해설]
해설 국내 가격이 국제 가격보다 비싸면 수입이, 싸면 수출이 발생한다.
④ 국제 가격 P0는 갑국의 수입량과 을국의 수출량이 같아질 때 결정된다.
[오답 피하기]

① 갑국의 국내 가격 P1이 을국의 국내 가격 P2보다 크기 때문에, 갑국은 X재 수입국, 을국은 X재 수출국이다.
② P1 > P0일 때, 가격이 P1에서 P0 으로 하락하기 때문에 갑국은 국내 수요량이 증가하고, 국내 생산량이 감소한다.
③ P0 > P2일 때, 가격이 P2에서 P0 으로 상승하기 때문에 을국은 국내 수요량이 감소하고, 국내 생산량이 증가한다.

32. 자유 무역 후 갑국과 을국의 경제적 잉여에 대한 설명으로 옳지 않은 것은?
① 갑국의 소비자 잉여는 A + B만큼 증가하였다.
② 을국의 생산자 잉여는 C + D만큼 증가하였다.
③ 갑국은 B만큼, 을국은 D만큼 사회적 잉여가 증가하였다.
④ 자유 무역으로 갑국과 을국의 모든 경제 주체가 이득이 된다.

32. 정답 ④
[해설]
가격이 P1에서 P0 으로 하락함에 따라 갑국의 소비자 잉여는 A+B 만큼 증가하고, 생산자 잉여는 A만큼 감소한다. 가격이 P2에서 P0 으로 상승함에 따라 을국의 생산자 잉여는 C+D 만큼 증가하고, 소비자 잉여는 C 만큼 감소한다.
④ 갑국의 소비자 잉여는 증가하고, 생산자 잉여는 감소한다. 또한 을국의 생산자 잉여는 증가하고, 소비자 잉여는 감소한다. 따라서 자유 무역으로 갑국과 을국의 모든 경제 주체가 이득이 된다고 볼 수 없다.
[오답 피하기]
① 갑국의 소비자 잉여는 A+B만큼 증가하였다.
② 을국의 생산자 잉여는 C+D만큼 증가하였다.
③ 갑국의 소비자 잉여는 A+B만큼 증가하고, 생산자 잉여는 A만큼 감소하였으므로 사회적 잉여는 B만큼 증가한다. 을국의 생산자 잉여는 C+D만큼 증가하고, 소비자 잉여는 C 만큼 감소하였으므로 사회적 잉여는 D 만큼 증가한다.

33. 다음 A ~ D재에 대한 설명으로 옳은 것은?

구분		배제성	
		유	무
경합성	유	A재	B재
	무	C재	D재

① A재는 시장에서 거래되기가 어렵다.
② B재는 필요 이상으로 과다하게 소비될 가능성이 크다.
③ C재의 소비 과정에서는 무임승차자의 문제가 발생하기 쉽다.
④ D재는 사회적으로 필요한 수준보다 과다 생산되는 경향이 있다.

33. 정답 ②

재화를 배제성 유무와 경합성 유무에 따라 분류하면, 사적재, 공유 자원, 요금재, 공공재로 나눌 수 있다.

② B재는 비배제성과 경합성을 갖는 공유 자원으로, 필요 이상으로 과다하게 소비되어 고갈되는 공유지의 비극이 발생할 수 있다.

[오답 피하기]

① A재는 배제성과 경합성을 갖는 사적재로 시장에서 거래된다.

③ C재는 배제성과 비경합성을 갖는 요금재이며, 소비 과정에서 무임승차자의 문제는 공공재에서 발생하기 쉽다.

④ D재는 비배제성과 비경합성을 갖는 공공재로 무임승차자의 문제가 발생하기 쉽다. 따라서 기업이 생산을 기피하여 사회적으로 필요 수준보다 과소 생산되는 경향이 있다.

34. 그림에 대한 분석으로 옳지 않은 것은?

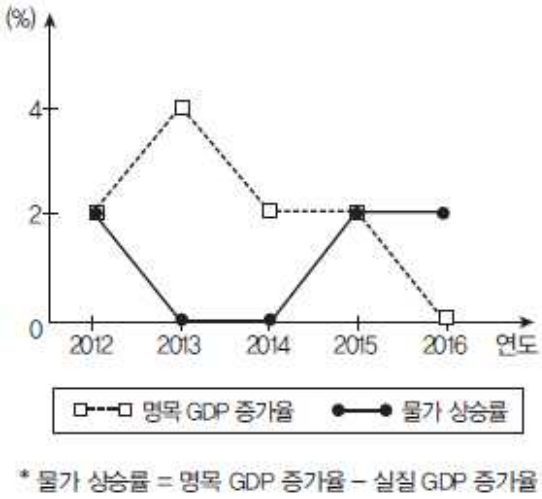

① 2012년보다 2015년의 물가가 더 높다.
② 2014년보다 2015년의 명목 GDP가 더 크다.
③ 실질 GDP가 가장 큰 해는 2016년이다.
④ 2014년은 2013년에 비해 실질 GDP가 증가하였다.

34. 정답 ③

실질 GDP 증가율 = 명목 GDP 증가율 – 물가 상승률'이다.

연도	실질 GDP 증가율
2012	0
2013	4
2014	2
2015	0
2016	−2

③ 실질 GDP가 가장 큰 해는 2014년과 2015년이다.

[오답 피하기]

① 2013년과 2014년의 물가 상승률은 0%로 2012년과 물가 수준이 같다. 그런데 2015년의 물가 상승률이 2%이기에 2012년보다 2015년의 물가가 더 높다.

② 2015년의 명목 GDP 증가율이 2%이기에 2014년보다 2015년의 명목 GDP가 더 크다.

④ 2014년의 실질 GDP 증가율이 2%이기에 2014년은 2013년에 비해 실질 GDP가 증가하였다.

35. 다음 자료를 통해 알 수 있는 전월 대비 7월의 고용 지표 변화로 옳은 것은? (단, 15세 이상 인구는 변함이 없다)

- 갑은 6월까지 ○○기업에서 비정규직 직원으로 근무하였으나 지금은 정규직 직원으로 근무하고 있다.
- 을은 6월까지 △△회사에서 근무하였으나 근로 조건이 마음에 들지 않아 퇴사하고 근로 조건이 더 나은 회사 몇몇 곳에 입사 원서를 제출하였다.
- 병은 6월까지 전업주부였지만 내년에 치르는 9급 공무원 시험에 합격하는 것을 목표로 현재 도서관에 다니고 있다.

	경제 활동 참가율	실업률	고용률
①	상승	상승	하락
②	상승	불변	상승
③	불변	상승	하락
④	불변	불변	상승

35. 정답 ③

[해설]

15세 이상 인구가 불변일 때, 취업자가 실업자가 되면 경제 활동 참가율은 일정하나 고용률은 감소한다.

③ 갑이 비정규직 직원에서 정규직 직원으로 바뀐 것은 취업자에서 취업자로의 이동으로 변동이 없다. 을은 취업자에서 실업자로 바뀌었다. 병은 비경제 활동 인구에서 비경제 활동 인구로의 이동으로 변동이 없다. 따라서 취업자 감소와 실업자 증가로 경제 활동 인구는 불변이다. 결국, 15세 이상 인구가 변함이 없기에 고용률은 하락이고 경제 활동 참가율은 불변이다. 그리고 경제 활동 인구는 불변이나 실업자가 증가이기에 실업률은 상승이다.

36. 밑줄 친 '정책'으로 적절한 것은?

20년 가까이 이어져 온 디플레이션 탈출을 위해 정부와 중앙은행은 적극적인 경기 부양 정책을 취해 왔다. 하지만, 최근 이로 인한 부작용도 커져가고 있다. 즉, 경기 부양을 위한 확장 금융 정책으로 인플레이션의 조짐이 여러 곳에서 목격되고 있다. 이에 중앙은행 은 다음의 정책을 고려중이다.

① 재할인율을 인상한다.
② 시중에 유통되는 국공채를 매입한다.
③ 도로 및 항만에 대한 건설 투자를 축소한다.
④ 기업의 투자에 대한 세금 감면 혜택을 확대한다.

36. 정답 ①

[해설]

경제 안정화 정책에는 정부의 재정 정책과 중앙은행의 금융 정책이 있다.

① 재할인율 인상은 중앙은행의 긴축 금융 정책의 수단이다.

[오답 피하기]

② 국공채 매입은 중앙은행의 확대 금융 정책의 수단이다.
③ 도로 및 항만에 대한 건설 투자 축소는 정부의 긴축 정책이나, 중앙은행의 정책이 아니다.
④ 기업의 투자에 대한 세금 감면 혜택 확대는 정부의 확장 정책으로 중앙은행의 정책이 아니다.

37. 밑줄 친 ㉠과 ㉡의 사례로 옳지 않은 것은?

> 원/달러 환율이 연일 급락해 지난해 1,500원을 넘던 것이 이젠 1,000원 선 마저 위협하고 있다. 이에 따라 이제는 개인이나 기업, 정부 모두 환율 하락을 걱정만 할 것이 아니라 환율 하락을 대세로 받아들이고, 저환율 시대를 살아가기 위한 생존 전략을 짜야 한다고 전문가들은 지적하고 있다.
> 또한 환율 하락의 밝은 면도 생각하라고 충고하고 있다. 환율이 하락하면 ㉠ 불리한 경제 주체만 있는 것 같지만, 실제로는 ㉡ 유리한 경제 주체도 있다는 것이다.

① 물가 안정을 책임지는 정부 기관은 ㉠의 사례이다.
② 자식을 미국으로 유학 보낸 학부모는 ㉡의 사례이다.
③ 미국에서 기술 사용료를 받는 기업은 ㉠의 사례이다.
④ 달러화 표시 채무가 많은 기업은 ㉡의 사례이다.

37. 정답 ①

[해설]

율 하락으로 달러 가치는 하락하고, 원화 가치는 상승한다. 따라서 달러 보유는 불리하고 원화 보유는 유리하다.

① 환율 하락은 수입 가격 하락이기에 물가 안정을 책임지는 정부 기관은 유리하다.

[오답 피하기]

② 자식을 미국으로 유학 보낸 학부모는 원화 가치 상승으로 유리하다.
③ 미국에서 기술 사용료를 받는 기업은 달러 가치 하락으로 불리하다.
④ 달러 표시 채무가 많은 기업은 달러 가치 하락으로 유리하다.

38. 그림은 우리나라 외환 시장에서의 달러에 대한 수요 곡선과 공급 곡선이다. 균형점이 E에서 A 또는 B로 이동하게 되는 사례로 옳은 것은?

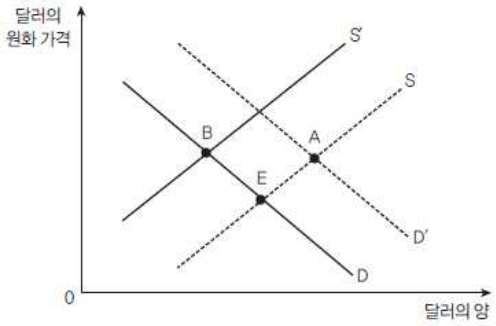

① E → A: 원유 가격 및 수입 원자재 가격의 하락
② E → A: 국제 금융 위기로 인한 우리나라 금융 기관들의 해외 차입 감소
③ E → B: 달러 가치 상승을 예상한 국내 수출 기업들의 환전 유보
④ E → B: 해외 금융 기관들이 우리나라에 투자한 자금 회수

38. 정답 ③

[해설]

외화 유출은 외화의 수요 증가이고, 외화 유입은 공급의 증가이다.

③ 달러 가치가 상승할 것으로 예상하여 외국으로부터 외화를 벌어들인 국내 수출 기업들이 국내 화폐로의 환전을 유보하는 것은 공급을 감소시키는 요인이 된다.

[오답 피하기]

① 원유 가격 및 수입 원자재 가격이 하락하면(동일한 수입량을 전제로) 이를 수입하기 위한 외화의 수요가 감소한다.
② 국제 금융 위기로 우리나라 금융 기관들이 외국으로부터 외화를 빌려오는 액수가 줄어드는 것은 공급 감소 요인이 된다.
④ 해외 금융 기관들이 우리나라에 투자한 자금을 회수하면 원화를 외화로 교환하여 가지고 가기 때문에 외화의 수요가 증가한다.

39. 국내 기업 갑이 해외 특허권 사용료를 외국 기업 을로부터 인수하였다. 이를 국제 수지표상에 표시하고자 할 때 옳은 것은?

수취 및 지급 / 항목	외화 수취	외화 지급
경상 수지	(가)	(나)
자본·금융계정	(다)	(라)

① (가) ② (나)
③ (다) ④ (라)

39. 정답 ②

[해설]

해외 특허권 사용료는 경상 수지 중 서비스 수지에서 외화 지급이 발생한다.

② 국내 기업 갑이 해외 특허권 사용료를 외국 기업 을에게 지급하면, 이는 경상 수지 중 서비스 수지에서 외화 지급에 해당하므로 (나)에 표시한다.

40. 그림 (가), (나)는 서로 다른 소득세 부과 방식을 나타낸 것이다. 이에 대한 설명으로 옳은 것은? [문제 수정함]

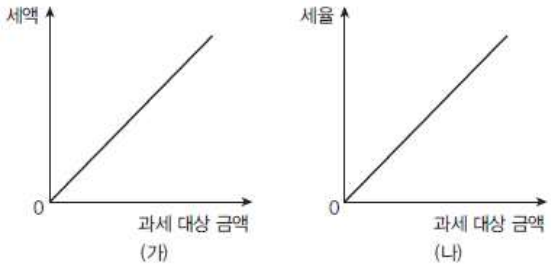

① (가)는 저소득층에 유리하게 작용한다.
② (가)는 소득 증가에 따라 세율이 증가한다.
③ (가)는 (나)와 달리 조세의 역진성이 나타난다.
④ (나)는 (가)와 달리 소득이 증가하면 세액이 증가한다.

40. 정답 ③

[해설]

세율이 소득에 따라 증가하면 누진세이고, 세율이 소득과 상관없이 일정하면 비례세이다. 따라서 (가)는 비례세, (나)는 누진세이다.

③ 조세의 역진성은 소득에서 세액이 차지하는 비중이 저소득층이 고소득층보다 큰 것으로 비례세에서 나타난다.

[오답 피하기]

① (가)는 비례세이고, 비례세는 조세부담의 역진성으로 저소득층에게 불리하고 상대적으로 고소득층에 유리하게 작용한다.

② (가)는 소득 증가에 따라 세액이 단순 비례로 증가하므로, 세율이 소득과 상관없이 일정한 비례세이다.

④ 비례세는 소득 증가에 따라 세액이 단순 비례로 증가하고, 누진세는 소득 증가에 따라 세액이 누진적으로 증가한다. 따라서 비례세와 누신제 모두 소득이 증가하면 세액이 증가한다.

41. 다음 갑국과 을국의 생산 가능 곡선에 대한 분석으로 옳지 않은 것은?

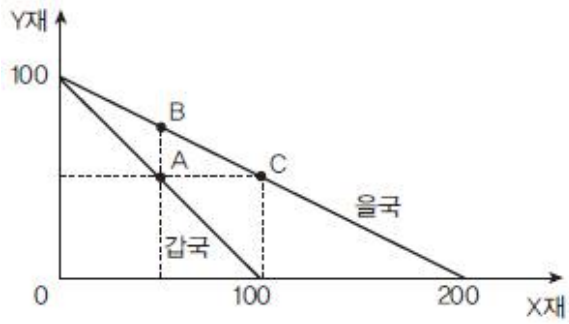

① X재 1단위 생산의 기회비용은 A점이 B점보다 작다.
② Y재 1단위 생산의 기회비용은 B점과 C점이 같다.
③ X재 1단위 생산의 기회비용은 C점이 A점보다 작다.
④ 갑국과 을국은 모두 X재 100단위와 Y재 100단위를 동시에 생산할 수 없다.

41. 정답 ①

[해설]

생산 가능 곡선이 직선이면, 모든 점에서 X재 1단위 생산의 기회비용은 일정하다.

① X재 1단위 생산의 기회비용은 A점에서는 Y재 1단위이고, B점에서는 Y재 1/2단위이다. 따라서 A점이 B점보다 크다.

[오답 피하기]

② B점과 C점이 같은 직선상의 점들이므로 Y재 1단위 생산의 기회비용은 X재 2단위로 같다.
③ X재 1단위 생산의 기회비용은 C점에서는 Y재 21단위이고, A점에서는 Y재 1단위이다. 따라서 A점이 C점보다 크다.
④ 갑국과 을국은 모두 X재 100단위와 Y재 100단위를 동시에 생산할 수 없다.

42. 다음의 자료에 대한 분석으로 옳지 않은 것은?

석유 수출국 기구(OPEC)의 원유 생산량 감축 결정은 휘발유 시장과 승용차 시장에 큰 영향을 주고 있다. 이에 따라 휘발유의 대체 연료인 에탄올에 대한 수요가 급증하고 있다.

① 승용차에 대한 수요만 고려한다면 승용차 가격은 하락할 것이다.
② 승용차에 대한 공급까지 고려한다면 승용차 가격은 더욱 하락할 것이다.
③ 승용차에 대한 수요만 고려하든지, 공급까지 고려하든지 간에 승용차의 거래량은 감소할 것이다.
④ 에탄올에 대한 수요 증가로 원료인 옥수수 가격은 상승할 것이다.

42. 정답 ②

[해설]

석유 수출국 기구(OPEC)의 원유 생산량 감축 결정은 원유 공급 감소에 의한 원유 가격 상승으로, 휘발유 생산비 상승에 의한 휘발유 공급 감소로 이어진다. 휘발유 공급 감소는 보완재인 승용차 수요를 감소시키고, 대체재인 에탄올 수요의 증가로 이어져 원료인 옥수수의 수요를 증가시킨다.

② 승용차에 대한 공급까지 고려한다면, 승용차 생산비 상승으로 인해 승용차 공급이 감소한다. 따라서 승용차 수요 감소와 승용차 공급 감소로 인해 승용차 가격의 변화는 알 수 없다.

[오답 피하기]

① 승용차에 대한 수요만 고려한다면, 승용차의 수요를 감소시켜 승용차 가격은 하락할 것이다.
③ 수요만 고려하든지 공급까지 고려하든지 간에 수요 감소와 공급 감소로 인해 승용차의 거래량은 감소할 것이다.
④ 에탄올에 대한 수요 증가로 원료인 옥수수의 수요 증가로 옥수수 가격은 상승할 것이다.

43. 그림의 A와 B 중 하나는 사회적 편익이고 나머지는 사적 편익을 나타낸다. 이에 대한 옳은 설명을 <보기>에서 고른 것은?

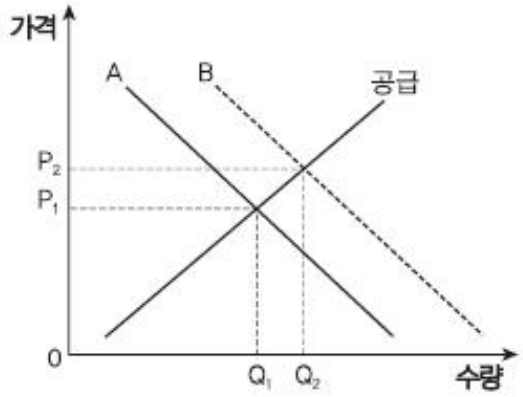

< >

ㄱ. A가 사적 편익이라면 시장 가격은 P1에서 결정된다.
ㄴ. A가 사적 편익이라면 실제 소비량은 사회적 최적 수준보다 Q1Q2만큼 적다.
ㄷ. B가 사적 편익이라면 정부가 소비자에게 보조금을 주는 정책을 시행하는 것이 바람직하다.
ㄹ. B가 사적 편익이라면 사회적 편익보다 작다.

① ㄱ, ㄴ ② ㄱ, ㄹ
③ ㄴ, ㄷ ④ ㄷ, ㄹ

43. 정답 ①
[해설]
외부 경제와 외부 불경제는 모두 시장 실패에 해당한다.
ㄱ. A가 사적 편익이라면 소비에서 외부 경제가 발생한 경우로, 실제 소비량은 Q1이며 시장 가격은 P1에서 결정된다.
ㄴ. A가 사적 편익이라면 소비에서 외부 경제가 발생한 경우로, 실제 소비량은 Q1이며 사회적 최적 수준은 Q2이다. 따라서 실제 소비량은 사회적 최적 수준보다 Q1Q2만큼 적다.
[오답 피하기]
ㄷ. B가 사적 편익이라면 소비에서 외부 불경제가 발생한 경우로, 정부가 소비자에게 세금을 부과하는 것이 바람직하다.
ㄹ. B가 사적 편익이라면 소비에서 외부 불경제가 발생한 경우로, 사회적 편익보다 크게 나타난다.

44. 그림의 A와 B는 갑국의 GDP를 서로 다른 방식 으로 나타낸 것이다. 이에 대한 설명으로 옳은 것을 <보기>에서 고른 것은?

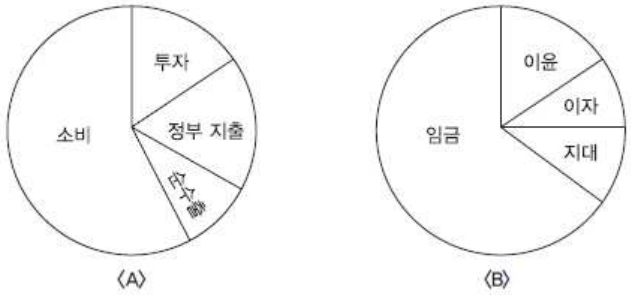

<보기>

ㄱ. 수입 소비재에 대한 지출이 증가해도 A의 크기는 변함이 없다.
ㄴ. 공공 사업이나 공무원 급여는 A의 정부 지출에 포함된다.
ㄷ. 수입 재화에 대한 국내 소비는 A의 소비에 포함되지 않는다.
ㄹ. 해외에서 일하는 갑국 국민에게 지급된 임금은 B의 임금에 포함된다.

① ㄱ, ㄴ ② ㄱ, ㄹ
③ ㄴ, ㄷ ④ ㄷ, ㄹ

44. 정답 ①
[해설]
ㄱ. A는 지출 측면의 GDP로 국내에서 생산된 재화에 대한 지출과 관련된다. 따라서 수입 소비재에 대한 지출은 포함되지 않기 때문에 수입 소비재에 대한 지출이 증가해도 A의 크기는 변함이 없다.
ㄴ. 지출 측면의 GDP는 소비 지출, 투자 지출, 정부 지출, 그리고 순수출로 구성된다. 이때 정부 지출은 공공 사업이나 공무원 급여 등과 관련된다.
[오답 피하기]
ㄷ. 지출 측면의 GDP는 소비 지출, 투자 지출, 정부 지출, 그리고 순수출로 구성된다. 이때 소비 지출은 국내에서 생산된 재화에 대한 소비만이 아니라 수입 재화에 대한 국내 소비도 포함된다.
ㄹ. B는 분배 측면의 GDP인데, 지대, 임금, 이자, 그리고 이윤으로 구성된다. 이때 해외에서 일하는 갑국 국민에게 지급된 임금은 갑국 GNP에 포함되기 때문에 분배 측면의 GDP에는 포함되지 않는다.

45. 현재 우리나라 15세 이상 인구는 4,000만 명, 비경제 활동 인구는 1,500만 명, 실업률이 4%라고 할 때, 이에 대한 설명으로 옳은 것은?(단, 15세 이상 인구와 비경제활동 인구는 변함이 없다고 한다.)

① 현재 상태에서 실업자는 60만 명이다.
② 현재 상태에서 경제 활동 참가율은 61.5%이다.
③ 현재 상태에서 고용률은 최대 2.5%포인트 증가할 수 있다.
④ 현재 상태에서 최대한 달성할 수 있는 고용률은 61.5%이다.

46. A국의 생산 가능 인구는 500만 명, 취업자 수는 285만 명, 실업률이 5%일 때, A국의 경제 활동 참가율은?

① 48% ② 50%
③ 57% ④ 60%

45. 정답 ③

[해설]

③ 비경제 활동 인구가 1,500만 명이고 15세 이상 인구가 4,000만 명이기에 경제 활동 인구는 2,500만 명이다. 실업률이 4%라고 할 때 취업률은 96%이기에, 실업자는 100만 명이고 취업자는 2,400만 명으로 고용률은 60%이다. 100만 명의 실업자가 취업자가 되면, 고용률은 2.5%포인트 증가할 수 있다.

[오답 피하기]

① 실업률이 4%라고 할 때, 경제 활동 인구가 2,500만 명이기에 실업자는 100만 명이다.
② 15세 이상 인구가 4,000만 명이고 경제 활동 인구가 2,500만 명이기에 경제 활동 참가율은 62.5%이다.
④ 실업률이 4%라고 할 때 취업률은 96%이므로 실업자는 100만 명이고, 취업자는 2,400만 명으로 고용률은 60%이다. 100만 명의 실업자가 모두 취업자가 되면, 고용률은 2.5%포인트 증가할 수 있다. 따라서 최대한 달성할 수 있는 고용률은 62.5%이다.

46. 정답 ④

④ A국의 15세 이상 인구는 500만 명이고, 취업자 수가 285만 명이므로 실업자수를 a라고 하면 경제활동인구는 285+a가 된다. 실업률이 5%라고 하였으므로 (a/a+285)×100=5이다. 이 때 a=15가 된다. 따라서 경제활동인구는 285+15가 되어 300만 명이고 생산 가능 인구는 500만 명이므로 경제 활동 참가율은 60%가 된다.

47. 다음 A ~ C에 대한 설명으로 옳지 않은 것은?

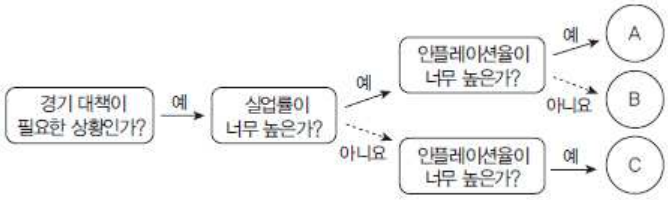

① A는 총공급을 증가시켜야 한다.
② B는 총수요를 확대시키기 위한 정책이 필요하다.
③ C는 긴축 정책이 필요하다.
④ A는 B, C와 달리 정부의 적극적인 개입이 대책이 될 수 있다.

48. 다음은 서로 다른 두 재화 (가), (나)의 공급과 수요를 그래프로 나타낸 것이다. 이에 대한 설명으로 옳지 않은 것은?

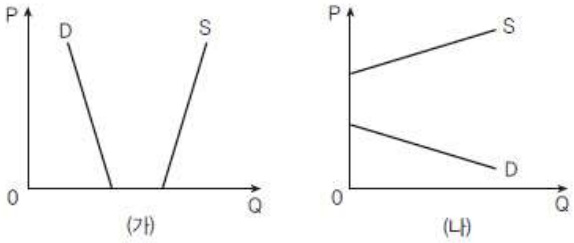

① (가)는 모든 가격대에서 공급량이 수요량보다 많다.
② (나)는 모든 수량에서 공급자의 최소 요구 가격이 수요자의 최대 지불 의사 가격보다 높다.
③ (가)와 달리 (나)는 경제재이다.
④ (나)와 달리 (가)는 시장에서 거래되지 않는 재화이다.

47. 정답 ④

[해설]

스태그플레이션이 나타나는 경우 정부 정책보다는 기술 혁신 등을 통한 총공급 증가가 필요하다. 경기 침체 상황 시 총수요를 확대시키기 위한 정부 정책이 필요하고, 수요 견인 인플레이션 상황 시 총수요를 억제하기 위한 정부 정책이 필요하다.

④ 스태그플레이션 시 정부 정책보다는 기술 혁신 등이 요구된다.

[오답 피하기]

① A는 스태그플레이션이 우려되는 상황이다. 따라서 기술 혁신으로 생산비를 낮추고 생산성을 향상시키기 위한 꾸준한 노력을 통해 총공급을 증가시켜야 한다.
② B는 경기 침체 상황에 해당한다. 따라서 총수요를 확대시키기 위한 확장 재정 정책이나 확장 통화 정책이 필요하다.
③ C는 수요 견인 인플레이션 상황이다. 따라서 총수요를 억제하기 위한 긴축 재정 정책이나 긴축 통화 정책이 필요하다.

48. 정답 ④

[해설]

(가)는 자유재이고, (나)는 공급자의 최소 요구 가격이 수요자의 최대 지불 의사 가격보다 커서 시장에서 거래되지 않는 재화이다.

[오답 피하기]

① (가)는 모든 가격대에서 공급량이 수요량보다 크고, 특히 가격이 0인 경우에도 공급량이 수요량보다 커서, 쓸모는 있으나 공짜인 '자유재'에 해당한다.
② (나)는 모든 수량에서 공급자의 최소 요구 가격이 수요자의 최대 지불 의사 가격보다 크고, 특히 수량이 0인 경우에도 공급자의 최소 요구 가격이 수요자의 최대 지불 의사 가격보다 커서, 거래가 성립되지 않는 경우로 경제재에 해당한다.
③ (가)는 자유재이나, (나)는 경제재이다.

49. (가)와 (나)에 대한 설명으로 옳지 않은 것은?

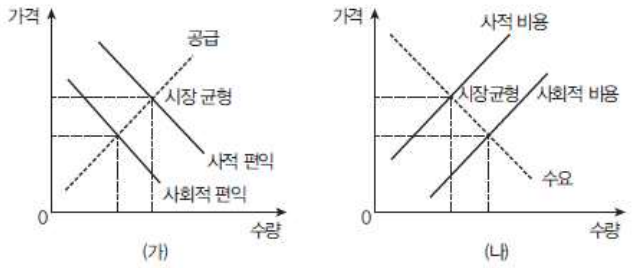

① (가)는 소비 측면의 외부 불경제이다.
② (가)에서 시장 균형 거래량이 사회적 최적 거래량보다 많다.
③ (나)는 보조금 지급으로 자원 배분의 효율성을 높일 수 있다.
④ (나)에서 시장 균형 가격이 사회적 최적 가격보다 낮다.

50. 다음 자료에 대한 옳은 분석만을 <보기>에서 고른 것은?

표는 X재 시장의 생산자 갑~무가 X재 1개를 판매할 때 받고자 하는 최소 요구 금액과 소비자 A~E가 X재 1개를 구입할 때 최대 지불 용의 금액을 나타낸다. 단, 각 생산자는 X재를 최대 1개까지만 판매하고, 각 소비자는 X재를 최대 1개까지만 구입한다.

생산자	갑	을	병	정	무
최소 요구 금액(원)	150	200	300	400	500

소비자	A	B	C	D	E
최대 지불 금액(원)	600	400	300	200	100

< >

ㄱ. 균형 가격은 400원이다.
ㄴ. 균형 거래량은 3개이다.
ㄷ. 가격이 200원일 경우 2개의 초과 공급이 발생한다.
ㄹ. 균형 가격으로 거래될 경우 소비자 잉여가 생산자 잉여보다 크다.

① ㄱ, ㄴ ② ㄱ, ㄷ
③ ㄴ, ㄷ ④ ㄴ, ㄹ

49. 정답 ④

[해설]

(가)는 사적 편익이 사회적 편익보다 큰 소비 측면의 외부 불경제에 해당한다. (나)는 사적 비용이 사회적 비용보다 큰 생산 측면의 외부 경제이다.

④ (나)에서 사적 비용이 사회적 비용보다 크기에 시장 균형 가격이 사회적 최적 가격보다 높다.

[오답 피하기]

① (가)는 소비 측면의 외부 불경제로 인한 시장 실패이다.
② (가)에서 사적 편익이 사회적 편익보다 크기에 시장 균형 거래량은 사회적 최적 거래량보다 많다.
③ (나)는 생산 측면의 외부 경제이기에 보조금 지급으로 자원 배분의 효율성을 높일 수 있다.

50. 정답 ④

X재 시장에서 가격이 300원일 때 공급량 3개(갑, 을, 병), 수요량 3개(A, B, C)로 일치한다.

ㄴ. 균형 가격일 때 수요량과 공급량은 3개로 일치하므로 균형 거래량은 3개이다.

ㄹ. 균형 가격으로 거래될 경우 생산자 잉여는 250원(=150원+ 100원)이고, 소비자 잉여는 400원(=300원+100원)이므로 균형 가격으로 거래될 경우 소비자 잉여가 생산자 잉여보다 크다.

[오답 피하기]

ㄱ. 균형 가격은 300원이다.
ㄷ. 가격이 200원일 경우 공급량은 2개, 수요량은 4개이므로 2개의 초과 수요가 발생한다.

51. 그림은 X재 시장의 변화를 나타낸다. 이에 대한 분석으로 옳은 것은? (단, X재 시장에서는 가격 변화에 따른 수요량의 변화가 나타나지 않는다. 또한 (가), (나)는 공급 곡선의 수평 이동을 의미한다.)

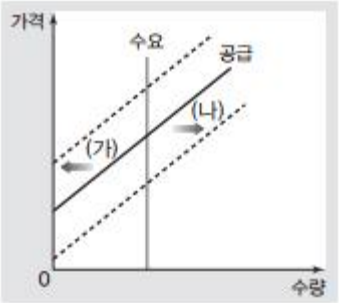

① (가)의 경우 균형 가격은 하락한다.
② (가)의 경우 소비자 잉여는 증가한다.
③ (나)의 경우 총잉여는 감소한다.
④ (나)의 경우 생산자 잉여는 변함이 없다.

정답 ④

[해설]

X재 시장의 수요 곡선은 수직이고, (가)는 공급 감소, (나)는 공급 증가를 나타낸다.

④ X재의 수요 곡선이 수직이므로 (나)와 같이 공급이 증가하더라도 생산자 잉여는 변함이 없다.

[오답 피하기]

① (가)의 경우 균형 가격은 상승한다.
② (가)의 경우 소비자 잉여가 증가했다고 보기 어렵다.
③ (나)의 경우 생산자 잉여는 변함이 없고, 소비자 잉여는 감소했다고 보기 어렵다. 그러므로 (나)의 경우 총잉여가 감소했다고 보기 어렵다.

52. 그림은 X재 시장의 균형점 이동(A → B)을 나타낸다. 균형점의 이동 요인으로 옳은 것은? (단, X재는 수요와 공급 법칙을 따른다.)

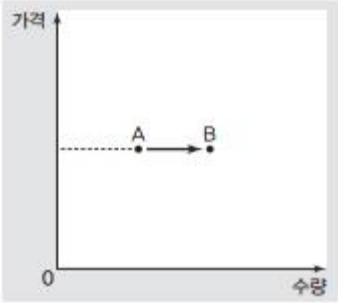

	수요	공급
①	증가	증가
②	증가	감소
③	감소	증가
④	감소	변화 없음

52. 정답 ①

[해설]

수요와 공급 법칙을 따르는 재화의 균형점이 수평으로 이동하기 위해서는 수요와 공급이 모두 변동해야 한다. 제시된 그림에서 X재 시장의 균형점은 A에서 B로 수평 이동하였으므로 수요와 공급이 모두 변동한 것이다.

① X재의 균형점이 오른쪽으로 수평 이동하였으므로 수요와 공급이 모두 증가한 것이다.

[오답 피하기]

② X재의 수요가 증가하고 공급이 감소한 경우 균형점은 A보다 위쪽으로 이동하게 된다.
③ X재의 수요가 감소하고 공급이 증가한 경우 균형점은 A보다 아래쪽으로 이동하게 된다.
④ X재의 수요가 감소하고 공급이 변함없을 경우 균형점은 A보다 아래쪽으로 이동하게 된다.
⑤ X재의 수요가 변함없고 공급이 감소한 경우 균형점은 A보다 위쪽으로 이동하게 된다.

53. 다음 자료에 대한 옳은 설명만을 <보기>에서 고른 것은?

- X재는 각각 A재, B재와 연관재 관계에 있다.
- X재, A재, B재는 모두 수요와 공급 법칙을 따른다.
- X재의 가격이 상승하면 A재의 거래량은 감소하고, B재의 거래량은 증가한다.

< >

ㄱ. A재는 X재와 보완재 관계에 있다.
ㄴ. X재의 가격 상승은 B재의 수요 증가 요인이다.
ㄷ. X재의 공급 증가는 A재의 수요 감소 요인이다.
ㄹ. X재의 공급 감소는 B재의 거래량 감소 요인이다.

① ㄱ, ㄴ ② ㄱ, ㄷ
③ ㄴ, ㄷ ④ ㄴ, ㄹ

53. 정답 ①

[해설]

연관재 관계에 있는 두 재화 중 한 재화의 가격이 상승할 때 다른 재화의 수요가 증가하면 대체재 관계이고, 다른 재화의 수요가 감소하면 보완재 관계이다. 수요와 공급 법칙을 따르는 재화의 수요가 증가하면 균형 가격은 상승하고, 수요가 감소하면 균형 가격은 하락한다.

ㄱ. X재는 A재와 연관재 관계에 있는데 X재의 가격이 상승할 때 A재의 거래량이 감소하므로 이는 A재의 수요가 감소했음을 의미한다. 그러므로 A재는 X재와 보완재 관계에 있다.

ㄴ. B재는 X재와 대체재 관계에 있으므로 X재의 가격 상승은 B재의 수요 증가 요인이다.

[오답 피하기]

ㄷ. X재의 공급이 증가할 경우 X재의 균형 가격은 하락한다. X재의 균형 가격 하락은 A재의 수요 증가 요인이다.

ㄹ. X재의 공급이 감소할 경우 X재의 균형 가격은 상승한다. X재의 균형 가격 상승은 B재의 거래량 증가 요인이다.

54. 표는 X재 시장의 가격에 따른 수요량과 공급량을 나타낸다. 이에 대한 옳은 분석만을 <보기>에서 고른 것은? (단, X재는 수요와 공급 법칙을 따른다.)

가격(원)	400	500	600	700	800
수요량(개)	300	250	200	150	100
공급량(개)	150	200	250	300	350

<보기>

ㄱ. 균형 가격은 600원보다 높다.
ㄴ. 가격이 400원일 경우 가격 상승 유인이 발생한다.
ㄷ. 가격이 500원일 경우 초과 수요가 발생한다.
ㄹ. 가격이 700원일 때 거래량은 800원일 때와 같다.

① ㄱ, ㄴ ② ㄱ, ㄷ
③ ㄴ, ㄷ ④ ㄴ, ㄹ

54. 정답 ③

[해설]

ㄴ. 가격이 400원일 경우 초과 수요가 발생하므로 가격 상승 유인이 발생한다.

ㄷ. 가격이 500원일 경우 50개의 초과 수요가 발생한다.

[오답 피하기]

ㄱ. 균형 가격은 500원과 600원 사이에서 결정된다.따라서 균형 가격은 600원보다 낮다.

ㄹ. 가격이 700원일 때 거래량은 150개이고, 800원일 때의 거래량은 100개이다.

55. 그림은 X재 시장의 공급 변동을 나타낸다. 이에 대한 옳은 설명만을 <보기>에서 고른 것은? (단, X재는 정상재이며, X재와 연관재 관계에 있는 재화는 모두 수요와 공급 법칙을 따른다.)

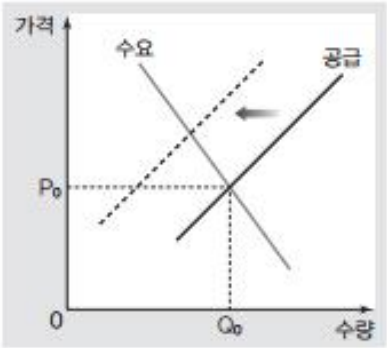

< >

ㄱ. X재 소비자의 소득이 증가할 경우 나타날 수 있다.
ㄴ. X재 공급자가 미래의 X재 가격이 하락할 것으로 예상할 경우 나타날 수 있다.
ㄷ. X재와 대체재 관계에 있는 재화의 수요가 증가하는 요인이 된다.
ㄹ. X재와 보완재 관계에 있는 재화의 판매 수입이 감소하는 요인이 된다.

① ㄱ, ㄴ ② ㄱ, ㄷ
③ ㄴ, ㄷ ④ ㄷ, ㄹ

55. 정답 ④

[해설]

수요와 공급 법칙을 따르는 재화의 경우 공급이 감소하면 균형 가격은 상승하고 균형 거래량은 감소한다.

ㄷ. X재의 공급이 감소할 경우 X재의 균형 가격은 상승한다. X재의 균형 가격 상승은 X재와 대체재 관계에 있는 재화의 수요가 증가하는 요인이 된다.

ㄹ. X재의 균형 가격 상승은 X재와 보완재 관계에 있는 재화의 수요가 감소하여 보완재 시장의 판매 수입이 감소하는 요인이 된다.

[오답 피하기]

ㄱ. X재 소비자의 소득 증가는 X재의 수요 증가 요인이다.

ㄴ. X재 공급자가 미래의 X재 가격이 하락할 것으로 예상하는 것은 X재의 공급 증가 요인이다.

56. 표는 X재 시장의 가격 수준에 따른 수요량과 공급량을 나타낸다. 이에 대한 설명으로 옳지 않은 것은? (단, X재는 수요와 공급 법칙을 따른다.)

가격(원)	100	200	300	400	500	600
수요량(개)	600	500	400	300	200	100
공급량(개)	200	300	400	500	600	700

① 균형 가격은 300원이고, 균형 거래량은 400개이다.
② 가격이 200원일 경우 200개의 초과 수요가 발생한다.
③ 모든 가격 수준에서 수요량이 100개씩 감소할 경우 균형 가격은 200원보다 높고 300원보다 낮다
④ 모든 가격 수준에서 공급량이 100개씩 증가할 경우 균형 거래량은 500개보다 많고 600개보다 적다.

56. 정답 ④

[해설]

X재 시장에서 가격이 300원보다 높을 경우 공급량이 수요량보다 많고 300원보다 낮을 경우 수요량이 공급량보다 많다.

④ 모든 가격 수준에서 공급량이 100개씩 증가할 경우 X재의 균형 가격은 200원보다 높고 300원보다 낮다. 그러므로 이러한 경우 균형 거래량은 400개보다 많고 500개보다 적다.

[오답 피하기]

① X재 가격이 300원일 때 수요량과 공급량이 일치하므로 균형 가격은 300원이고, 이때 수요량과 공급량은 각각 400개이므로 균형 거래량은 400개이다.

② X재 가격이 200원일 경우 수요량은 500개, 공급량은 300개이므로 200개의 초과 수요가 발생한다.

③ 모든 가격 수준에서 수요량이 100개씩 감소할 경우 X재 가격이 200원일 때에는 초과 수요, 300원일 때에는 초과 공급이 발생한다. 그러므로 이러한 경우 X재 시장의 균형 가격은 200원보다 높고 300원보다 낮다.

57. 표는 X재 시장의 가격 수준에 따른 수요량과 공급량을 나타낸다. 이에 대한 옳은 분석 및 추론만을 <보기>에서 고른 것은? (단, X재는 수요와 공급 법칙을 따르며, 수요 곡선과 공급 곡선은 모두 직선이다.)

가격(원)	100	150	200	250	300	350	400
수요량(개)	400	350	300	250	200	150	100
공급량(개)	70	120	170	220	270	320	370

< >

ㄱ. 가격이 100원일 경우 거래는 발생하지 않는다.
ㄴ. 균형 가격은 300원보다 낮은 수준에서 결정된다.
ㄷ. 가격이 170원일 경우 거래량은 170개보다 적다.
ㄹ. 가격이 350원일 경우 거래액은 300원일 때보다 많다.

① ㄱ, ㄴ ② ㄱ, ㄷ
③ ㄴ, ㄷ ④ ㄴ, ㄹ

57. 정답 ③

[해설]

X재 시장에서 가격이 250원일 경우 초과 수요, 가격이 300원일 경우 초과 공급이 발생하므로 균형 가격은 250원보다 높고 300원보다 낮다.

ㄴ. X재의 가격이 300원일 경우 초과 공급이 발생하므로 균형 가격은 300원보다 낮은 수준에서 결정된다.

ㄷ. X재의 가격이 200원일 경우 거래량은 공급량에 해당하는 170개이다. X재의 가격이 200원보다 낮아질 경우 공급량은 200원일 때보다 감소하여 거래량은 170개보다 줄어든다. 그러므로 X재의 가격이 170원일 경우 거래량은 170개보다 적다.

[오답 피하기]

ㄱ. X재의 가격이 100원일 경우 거래량은 70개이다.

ㄹ. X재의 가격이 350원일 경우 거래량은 150개이고, 이때 거래액은 52,500원이다. X재의 가격이 300원일 때 거래량은 200개이므로 이때 거래액은 60,000원이다.

58. 표는 X재 가격이 5% 상승하였을 때 A재~C재의 거래량 증감률을 나타낸다. 이에 대한 옳은 설명만을 <보기>에서 고른 것은? (단, 모든 재화는 수요와 공급 법칙을 따르며, X재는 A재~C재와 연관재 관계에 있다.)

구분	A재	B재	C재
거래량 증감률(%)	5	-5	- 10

<보기>

ㄱ. A재는 X재와 대체재 관계에 있다.
ㄴ. X재의 공급이 감소할 경우 B재의 수요는 감소한다.
ㄷ. B재와 달리 C재는 X재와 보완재 관계에 있다.
ㄹ. X재의 원자재 가격 하락은 A재와 C재의 수요 증가 요인이다.

① ㄱ, ㄴ ② ㄱ, ㄷ
③ ㄴ, ㄷ ④ ㄴ, ㄹ

58. 정답 ①

[해설]

X재는 A재~C재와 연관재 관계에 있으며, X재의 가격이 상승하였을 때 A재는 거래량이 증가하였고, B재와 C재는 거래량이 감소하였다. 이를 통해 X재의 가격이 상승하였을 때 A재의 수요는 증가하였고, B재와 C재의 수요는 감소하였음을 알 수 있다.

ㄱ. X재의 가격이 상승하였을 때 A재의 수요는 증가하였으므로 A재는 X재와 대체재 관계에 있다.

ㄴ. X재의 공급이 감소할 경우 X재의 가격은 상승한다. X재의 가격이 상승할 경우 B재의 수요는 감소한다.

[오답 피하기]

ㄷ. B재와 C재는 모두 X재와 보완재 관계에 있다.

ㄹ. X재의 원자재 가격 하락은 X재의 공급 증가 요인이다. X재의 공급 증가는 X재의 가격 하락 요인이므로 X재의 원자재 가격 하락은 A재의 수요 감소 요인, C재의 수요 증가 요인이다.

59. X재~Z재를 독점 생산하는 A 기업이 세 재화의 가격을 각각 5%씩 인상한 후 판매 수입의 변화율이 다음과 같을 때 옳은 설명은?

구분	X재	Y재	Z재
판매 수입 변화율(%)	5	0	-5

< >

ㄱ. X재의 수요는 가격에 대해 단위 탄력적이다.
ㄴ. Y재의 수요는 가격에 대해 완전 비탄력적이다.
ㄷ. Z재의 수요는 가격에 대해 탄력적이다.
ㄹ. Y재와 Z재의 수요량은 모두 감소하였다.

① ㄱ, ㄴ ② ㄱ, ㄷ
③ ㄴ, ㄷ ④ ㄷ, ㄹ

59. 정답 ④

[해설]

X재는 가격을 5% 인상하였는데 판매 수입이 5% 증가하였으므로 X재의 수요는 가격에 대해 완전 비탄력적이고, Y재는 가격을 5% 인상하였는데 판매 수입의 변화가 없으므로 Y재의 수요는 가격에 대해 단위 탄력적이며, Z재는 가격을 5% 인상하였는데 판매 수입이 감소하였으므로 Z재의 수요는 가격에 대해 탄력적이다.

ㄷ. Z재는 가격을 5% 인상하였는데 수요량의 감소율이 더 커 판매 수입이 감소하였으므로 Z재의 수요는 가격에 대해 탄력적이다.

ㄹ. Y재는 가격을 인상하였는데 판매 수입이 일정하였고, Z재는 가격을 인상하였는데 판매 수입이 감소하였으므로 가격 인상으로 Y재와 Z재의 수요량은 모두 감소하였다.

[오답 피하기]

ㄱ. X재는 가격 인상률과 판매 수입 증가율이 같으므로 X재의 수요는 가격에 대해 완전 비탄력적이다.

ㄴ. Y재는 가격 인상에 따른 판매 수입의 변화가 없으므로 Y재의 수요는 가격에 대해 단위 탄력적이다.

60. 그림은 X재~Z재를 질문에 따라 분류한 것이다. 이에 대한 옳은 설명만을 <보기>에서 고른 것은? (단, X재~Z재는 모두 수요 법칙을 따르며, 공급 변동으로 가격의 변화가 나타났다고 가정한다.)

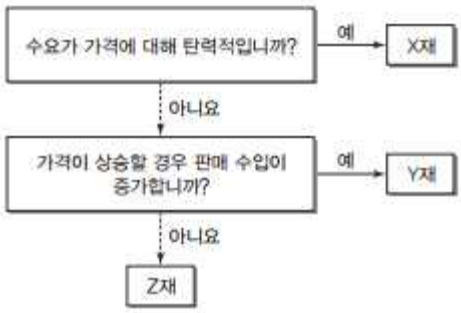

<보기>

ㄱ. X재의 가격이 상승할 경우 판매 수입은 감소한다.
ㄴ. Y재의 수요는 가격에 대해 비탄력적이다.
ㄷ. Z재는 수요의 가격 탄력성이 영(0)이다.
ㄹ. Z재는 Y재에 비해 필수재의 성격이 강하다.

① ㄱ, ㄴ ② ㄱ, ㄷ
③ ㄴ, ㄷ ④ ㄴ, ㄹ

60. 정답 ①

[해설]

X재의 수요는 가격에 대해 탄력적이고, Y재의 수요는 가격에 대해 비탄력적이며, Z재의 수요는 가격에 대해 단위 탄력적이다.

ㄱ. X재의 수요는 가격에 대해 탄력적이므로 X재의 가격이 상승할 경우 판매 수입은 감소한다.

ㄴ. Y재는 가격이 상승할 경우 판매 수입이 증가하는 재화이므로 Y재의 수요는 가격에 대해 비탄력적이다.

[오답 피하기]

ㄷ. Z재는 수요의 가격 탄력성이 1이다.

ㄹ. Y재의 수요는 가격에 대해 비탄력적이고, Z재의 수요는 가격에 대해 단위 탄력적이므로 Z재가 Y재에 비해 필수재의 성격이 강하다고 보기는 어렵다.

61. 그림은 두 가지 형태의 X재의 수요 곡선을 나타낸다. 이에 대한 옳은 설명만을 <보기>에서 고른 것은? (단, X재 시장에서는 어느 가격 수준에서도 수요량만큼 X재를 판매한다.)

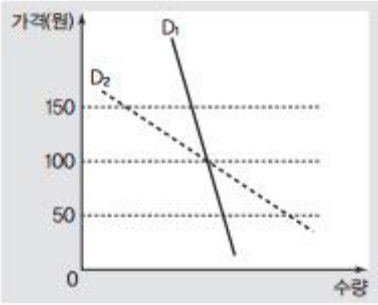

< >

ㄱ. 가격이 100원에서 150원으로 상승할 경우 수요량 감소분은 D_1보다 D_2가 크다.
ㄴ. 가격이 100원일 경우 판매 수입은 D_1보다 D_2가 많다.
ㄷ. 가격이 100원에서 50원으로 하락할 경우 판매 수입은 D_2보다 D_1이 적다.
ㄹ. 가격이 100원에서 50원으로 하락할 경우 수요량 증가율은 D_2보다 D_1이 높다.

① ㄱ, ㄴ ② ㄱ, ㄷ
③ ㄴ, ㄷ
④ ㄴ, ㄹ ⑤ ㄷ, ㄹ

62. 밑줄 친 ㉠~㉣에 대한 설명으로 옳지 않은 것은?

갑국에서는 ㉠미세먼지 급증으로 인한 환경 문제가 발생하였다. 이에 갑국 정부는 미세먼지 급증 요인으로 지목되고 있는 공장 폐기물 무단 소각에 대해 ㉡범칙금을 부과하고, 미세먼지 배출이 많은 공장에 ㉢환경세를 부과하여 이 문제를 ㉣개선하였다.

① ㉠은 외부 불경제에 해당한다.
② ㉡은 공장 폐기물 무단 소각의 사적 비용을 증가시킨다.
③ ㉢은 공장의 미세먼지 배출에 따른 사회적 비용을 증가시킨다.
④ 공장의 미세먼지 배출에 따른 사적 비용이 사회적 비용 수준으로 증가한 것은 ㉣에 해당한다.

61. 정답 ②
[해설]
가격이 100원에서 상승하거나 하락할 때 수요량의 변화 폭은 D_1보다 D_2가 크게 나타난다.
ㄱ. 가격이 100원일 때 D_1과 D_2의 수요량은 같지만 가격이 150원일 때 수요량은 D_2보다 D_1이 많다. 그러므로 가격이 100원에서 150원으로 상승할 경우 수요량 감소분은 D_1보다 D_2가 크다.
ㄷ. 가격이 100원일 때 D_1과 D_2의 수요량은 같지만 가격이 50원일 때 수요량은 D_1보다 D_2가 많다. 그러므로 가격이 100원에서 50원으로 하락할 경우 판매 수입은 D_2보다 D_1이 적다.
[오답 피하기]
ㄴ. 가격이 100원일 경우 판매 수입은 D_1과 D_2가 같다.
ㄹ. 가격이 100원일 때 수요량은 D_1과 D_2가 동일하지만 가격이 50원일 때 수요량은 D_1보다 D_2가 많다. 그러므로 가격이 100원에서 50원으로 하락할 경우 수요량 증가율은 D_1보다 D_2가 높다.

62. 정답 ③
[해설]
제시된 자료에서 미세먼지 급증으로 인한 환경 문제는 생산 측면의 외부 불경제가 발생한 것이다. 미세먼지 배출에 대한 범칙금 부과나 환경세 부과는 생산 측면의 외부 불경제를 개선하기 위한 대책이다.
③ 미세먼지 배출이 많은 공장에 대한 환경세 부과는 사회적 비용을 증가시키는 것이 아니라 공장의 미세먼지 배출에 따른 사적 비용을 증가시킨다.
[오답 피하기]
① 미세먼지 급증으로 인한 환경 문제는 미세먼지가 사회적 최적 수준보다 많아 발생한 외부 불경제에 해당한다.
② 범칙금을 부과하는 것은 공장 폐기물 무단 소각의 사적 비용을 증가시킨다.
④ 공장의 미세먼지 배출에 따른 사적 비용이 사회적 비용 수준으로 증가하게 되면 미세먼지로 인한 환경 문제가 개선된다.

63. 표는 재화 A~D를 속성에 따라 구분한 것이다. 이에 대한 옳은 설명만을 <보기>에서 고른 것은?

구분	경합성	비경합성
배제성	A	B
비배제성	C	D

< >

ㄱ. '공해상의 어족 자원'은 A의 사례에 해당한다.
ㄴ. B와 달리 C는 자신의 소비가 타인의 소비 기회를 감소시키지 않는다.
ㄷ. D와 달리 B는 대가를 지불하지 않을 경우 소비에서 배제될 수 있다.
ㄹ. C와 D는 재화의 속성상 사회적 최적 수준만큼 거래되지 않는 문제가 발생할 수 있다.

① ㄱ, ㄴ ② ㄱ, ㄷ
③ ㄴ, ㄷ ④ ㄷ, ㄹ

64. X재 시장이 경쟁 시장에서 독점 시장으로 변해 공급자가 공급량을 줄이는 경우 일반적으로 나타나는 현상에 대하여 옳게 설명한 것을 모두 고른 것은?

갑 : 경쟁 시장에 비해 가격이 상승해요.
을 : 경쟁 시장에 비해 생산자 잉여가 감소해요.
병 : 경쟁 시장에 비해 자원 배분의 효율성이 감소해요.
정 : 경쟁 시장과 달리 재화나 서비스가 사회적 최적 수준에서 거래돼요.

① 갑, 을 ② 갑, 병
③ 을, 병 ④ 을, 정

63. 정답 ④

[해설]

A는 대부분의 사적 재화, B는 유료로 누구나 사용이 가능한 재화, C는 공유 자원, D는 공공재에 해당한다.

ㄷ. 비배제성을 갖는 D와 달리 B는 배제성을 갖는 재화이므로 대가를 지불하지 않을 경우 소비에서 배제될 수 있다.

ㄹ. C는 공유 자원에 해당하므로 남용으로 인한 자원 고갈 문제가 발생할 수 있으며, D는 공공재에 해당하므로 사회적 최적 수준보다 적게 생산되는 문제가 발생할 수 있다.

[오답 피하기]

ㄱ. '공해상의 어족 자원'은 공유 자원의 사례에 해당한다.

ㄴ. B는 비경합성을 갖는 재화이고, C는 경합성을 갖는 재화이므로 B와 달리 C는 자신의 소비가 타인의 소비 기회를 감소시킨다.

64. 정답 ②

[해설]

X재 시장이 경쟁 시장에서 독점 시장으로 변해 공급자가 공급량을 줄이는 경우 일반적으로 가격이 상승하여 소비자 잉여가 감소하며, 재화나 서비스가 사회적 최적 수준보다 적게 거래되어 자원 배분의 효율성이 감소한다.

갑. 독점 시장에서 공급자가 공급량을 줄이는 경우 경쟁 시장에 비해 가격이 상승한다.

병. 경쟁 시장과 달리 재화나 서비스가 사회적 최적 수준보다 적게 거래되므로 자원 배분의 효율성이 감소한다.

[오답 피하기]

을. 일반적으로 독점 기업은 시장 지배력을 이용해 이윤이 극대화되는 수준까지 공급량을 감소시킬 수 있으며, 이러한 경우 생산자 잉여는 증가한다.

정. 독점 시장에서 공급자가 공급량을 줄이는 경우 경쟁 시장에 비해 재화나 서비스가 사회적 최적 수준보다 적게 거래되는 문제가 발생한다.

65. 다음 두 사례의 공통적인 요인으로 옳은 것은?

- 중고 시장에서 상대적으로 정보가 부족한 소비자는 품질이 낮은 재화를 품질에 비해 높은 가격에 구입하게 된다.
- 피보험자는 보험 가입 이전에 비해 사고 예방에 최선을 다하지 않아 사회적으로 사고 처리 비용이 증가한다.

① 외부 효과 발생
② 규모의 경제 실현
③ 독과점 시장의 형성
④ 거래 당사자 간 정보의 비대칭성

65. 정답 ④

[해설]

중고 시장에서 소비자가 낮은 품질의 재화나 서비스를 품질에 비해 높은 가격에 구입하게 되는 것이나, 피보험자가 보험 가입 이전에 비해 사고 예방에 최선을 다하지 않아 사회적으로 사고 처리 비용이 증가하는 것은 거래 당사자 간 정보의 비대칭성으로 인한 시장 실패의 사례이다.

④ 첫 번째 사례는 중고 시장에서 판매자에 비해 소비자가 갖는 정보가 부족하기 때문에 발생한 역선택의 사례이고, 두 번째 사례는 피보험자가 자신의 이익만을 좇아 행동한 결과 사회적으로 바람직하지 않은 결과가 발생한 도덕적 해이의 사례이다. 따라서 두 사례는 모두 거래 당사자 간 정보의 비대칭성으로 인해 발생한 현상을 나타낸다.

[오답 피하기]

①, ②, ③, 외부 효과 발생, 규모의 경제 실현, 독과점 시장의 형성 등은 제시된 사례의 공통적인 요인으로 볼 수 없다.

66. 밑줄 친 ㉠ ~ ㉣에 대한 옳은 설명을 <보기>에서 고른 것은?

갑은 중국 음식점에서 ㉠5천 원을 지불하고 자장면을 주문하였다. 그런데 기대한 것과 달리 자장면 맛은 매우 실망스러웠다. 갑은 주문한 ㉡자장면을 끝까지 먹는 것보다 집에 가서 ㉢라면을 먹는 것이 더 낫겠다고 생각했지만 ㉣이미 지불한 5천 원이 아까워 다 먹었다.

< 기>

ㄱ. ㉠은 소비 활동에 해당한다.
ㄴ. ㉡을 선택할 때 추가적으로 명시적 비용이 발생한다.
ㄷ. ㉡의 기회비용에는 ㉢에서 얻는 만족감이 포함된다.
ㄹ. ㉣은 ㉢을 선택할 때의 암묵적 비용이다.

① ㄱ. ㄴ ② ㄱ, ㄷ ③ ㄴ, ㄷ
④ ㄴ, ㄹ ⑤ ㄷ, ㄹ

66. 정답 ②

[해설]

ㄱ. 만족감을 얻기 위한 행위로 소비에 해당한다.
ㄷ. ㉡을 선택함으로써 ㉣으로 인한 이익을 포기해야 하므로 ㉡의 기회비용에는 ㉢에서 얻는 만족감이 포함된다.

[오답 피하기]

ㄴ. ㉡을 선택할 때 추가적인 명시적 비용은 발생하지 않는다.
ㄹ. ㉣은 매몰 비용이다.

67. 표는 경제 체제의 일반적인 특징에 따라 A, B를 구분한 것이다. 이에 대한 옳은 설명을 <보기>에서 고른 것은? (단, A와 B는 각각 계획 경제 체제와 시장 경제 체제 중 하나이다.

질문	A	B
시장 가격 기구의 역할을 중시하는가?	예	아니요
사익을 추구하기 위한 개인의 자유로운 경제 활동을 존중하는가?	㉠	㉡
(가)	예	예

< 기>

ㄱ. ㉠에는 '예', ㉡에는 '아니요'가 들어간다.
ㄴ. (가)에는 "경제 문제가 발생하는가?"가 들어갈 수 있다.
ㄷ. A는 정부 계획에 의해 생산물의 종류와 양이 결정된다.
ㄹ. B는 A와 달리 형평성보다 효율성을 우선시한다.

① ㄱ. ㄴ ② ㄱ, ㄷ ③ ㄴ, ㄷ
④ ㄴ, ㄹ ⑤ ㄷ, ㄹ

67. 정답 ①
[해설]
A는 시장 경제 체제, B는 계획 경제 체제이다.
ㄱ. 사익을 추구하기 위한 개인의 자유로운 경제 활동을 존중하는 것은 시장 경제 체제에서이다.
ㄴ. 경제 문제는 어느 경제 체제이든지 모두 발생한다.
[오답 피하기]
ㄷ. 정부 계획에 의해 생산물의 종류와 양이 결정되는 것은 계획 경제이다.
ㄹ. 형평성보다 효율성을 우선시하는 것은 시장 경제 체제이다.

68. 다음 자료에 대한 분석으로 옳은 것은?

(가), (나)는 각각 갑과 을의 생산 가능 곡선이 변화한 모습 중 하나이다. 같은 시기에 갑은 X재, 을은 Y재의 생산 기술이 향상되었다. 단, 갑과 을의 생산 요소의 양은 동일하다.

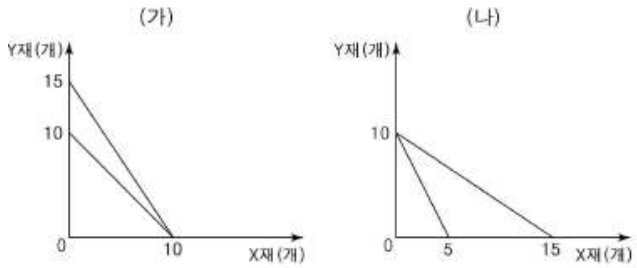

① (가)는 갑, (나)는 을의 생산 가능 곡선이다.
② 변화 전 갑은 X재 생산에 절대 우위가 있다.
③ 변화 전과 변화 후 갑이 비교 우위를 갖는 재화는 동일하지 않다.
④ 변화 후 을의 X재 1개 추가 생산의 기회비용은 커졌다.

68. 정답 ③
[해설]
③ 변화 전과 변화 후 갑과 을의 X재와 Y재 1개 추가 생산의 기회비용은 다음과 같다. 따라서 변화 전과 변화 후 갑이 비교 우위를 갖는 재화는 동일하지 않다.

(단위: 개)

구분	변화 전		변화 후	
	갑	을	갑	을
X재	Y재 2	Y재 1	Y재 2/3	Y재 3/2
Y재	X재 1/2	X재 1	X재 3/2	X재 2/3

[오답 피하기]
① (가)는 을, (나)는 갑의 생산 가능 곡선이다.
② 변화 전 을은 X재 생산에 절대 우위가 있다.
④ 변화 후 을의 X재 1개 추가 생산의 기회비용은 작커졌다.

69. 표는 갑국의 연도별 소득세율 적용 방식을 나타낸다. 이에 대한 옳은 분석만을 <보기>에서 있는 대로 고른 것은?

(단위 : %)

과세 대상 소득	2015년	2016년	2017년
1,200만 원 이하	6	20	5
1,200만 원 초과 4,000만 원 이하	12	20	10
4,000만 원 초과 8,000만 원 이하	25	20	30
8,000만 원 초과 2억 원 이하	35	20	40
2억 원 초과	40	20	50

* 2016년은 과세 대상 소득에 관계없이 20%의 세율을 적용한다.

** 2015년과 2017년은 과세 대상 소득의 구간에 따라 다른 세율을 적용한다. 예를 들어 2017년의 과세 대상 소득이 3,000만 원인 경우 1,200만 원은 5%, 나머지 1,800만 원은 10%의 세율을 적용한다.

< 기>

ㄱ. 2016년은 과세 대상 소득 증가율과 세액의 증가율이 같다.
ㄴ. 2017년은 2015년에 비해 소득 재분배 효과가 커졌다.
ㄷ. 과세 대상 소득이 5,000만 원일 때 2015년의 소득세 부담이 가장 작다.
ㄹ. 과세 대상 소득이 8,000만원 일 때 2017년의 소득세는 전년에 비해 증가한다.

① ㄱ. ㄴ ② ㄱ, ㄷ ③ ㄷ, ㄹ
④ ㄱ, ㄴ, ㄹ ⑤ ㄴ, ㄷ, ㄹ

69. 정답 ①

[해설]

ㄱ. 2016년은 세율이 일정한 비례세율이 적용되므로 과세 대상 소득 증가율과 세액의 증가율이 같다.
ㄴ. 2017년은 2015년에 비해 고소득자에게 더 높은 세율이 적용되므로 소득 재분배 효과가 커졌다.

[오답 피하기]

ㄷ. 2017년의 소득세 부담이 가장 작다.
ㄹ. 2017년의 소득세는 전년에 비해 감소한다.

70. 갑, 을의 주장에 대한 옳은 설명을 <보기>에서 고른 것은?

<보 기>

ㄱ. 갑은 다자녀 가구에 해당되는 소비자의 순편익을 증가시키는 방안을 제시하고 있다.
ㄴ. 갑이 제시한 경제적 유인과 유사한 사례로는 쓰레기 종량제 위반에 대한 과태료 부과를 들 수 있다.
ㄷ. 을은 부정 승차자의 비용 부담을 증가시켜 특정 행위를 줄이려는 방안을 제시하고 있다.
ㄹ. 갑은 을과 달리 사람들이 합리적으로 행동한다는 것을 전제로 한다.

① ㄱ. ㄴ ② ㄱ, ㄷ ③ ㄴ, ㄷ
④ ㄴ, ㄹ ⑤ ㄷ, ㄹ

70. 정답 ②

갑은 긍정적 경제적 유인, 을은 부정적 경제적 유인을 제시하고 있다.

[오답 피하기]

ㄴ. 쓰레기 종량제 위반에 대한 과태료 부과는 부정적 경제적 유인에 해당한다.
ㄹ. 갑, 을 모두 사람들이 합리적으로 행동한다는 것을 전제한다.

71. 다음 자료에 대한 분석으로 옳은 것은?

그림은 갑국의 X재와 Y재 시장을 나타낸다. 최근 갑국 정부는 X재의 최저 가격을 P_2, Y재의 최고 가격을 P_1에서 규제하는 정책을 시행하였다.

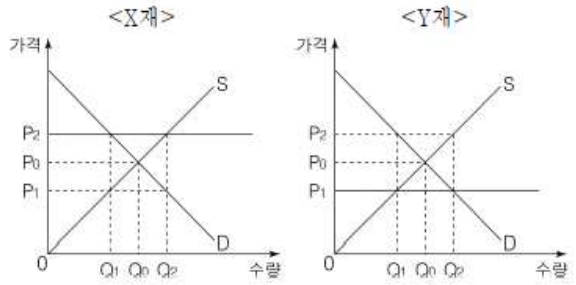

① 가격 규제 이후 X재 시장에서는 초과 수요가 발생한다.
② X재 시장의 가격 규제는 소비자를 보호하기 위한 정책이다.
③ 가격 규제 이후 Y재 암시장 가격은 P_2까지 상승할 수 있다.
④ 가격 규제 이후 Y재 시장에서 수요가 증가하면 시장 거래량이 증가한다.
⑤ 가격 규제 이후 Y재 시장에서 공급이 감소하면 가격 규제의 실효성은 사라진다.

71. 정답 ③

[해설]

③ 가격 규제 이후 암시장이 형성되면 공급의 감소로 인하여 이전의 시장 균형 가격보다 더 높은 가격을 지불해서라도 구매하려고 하므로 Y재 암시장 가격은 P_2까지 상승할 수 있다.

[오답 피하기]

① 가격 규제 이후 X재 시장에서는 초과 공급이 발생한다.
② X재 시장의 가격 규제는 생산자를 보호하기 위한 정책이다.
④ 가격 규제 이후 Y재 시장에서 수요가 증가해도 시장 거래량은 변하지 않는다.
⑤ 가격 규제 이후 Y재 시장에서 공급이 감소하면 시장 가격이 규제 가격보다 높게 형성되어 실효성은 유지된다.

72. 다음 자료에 대한 설명으로 옳은 것은?

X재의 원자재 가격이 상승함에 따라 X재의 연관재인 Y재와 Z재 시장에 변화가 나타났다. 그 결과 Y재의 판매 수입은 증가하였고, Z재의 판매 수입은 감소하였다. (단, 세 재화 모두 수요와 공급의 법칙을 따르며, Y재와 Z재는 독립재이다.

① X재의 가격과 Y재의 수요는 음(−)의 관계이다.
② X재의 공급이 증가하면 Y재의 수요는 감소한다.
③ X재의 가격이 하락하면 Z재의 수요는 감소한다.
④ X재의 생산 비용이 감소하면 Z재의 거래량은 감소한다.
⑤ X재와 Y재는 보완재 관계, X재와 Z재는 대체재 관계이다.

72. 정답 ②

[해설]

② X재의 원자재 가격이 상승할 때 Y재의 판매수입은 증가하였다고 하였으므로 Y재의 수요가 증가하였다는 것을 의미한다. 따라서 X재와 Y재는 대제재 관계에 있다. 따라서 X재의 공급이 증가하면 X재의 가격은 하락하고 Y재는 수요가 감소한다.

[오답 피하기]

① X재의 가격과 Y재의 수요는 양(+)의 관계이다.
③ X재의 가격이 하락하면 Z재의 수요는 증가한다.
④ X재의 생산 비용이 감소하면 Z재의 거래량은 증가한다.
⑤ X재와 Y재는 대체재 관계, X재와 Z재는 보완재 관계이다.

73. (가), (나)는 X재 수요와 공급의 변화를 나타낸다. 이에 해당하는 원인을 각각 옳게 연결한 것은? (단, X재는 정상재이다.)

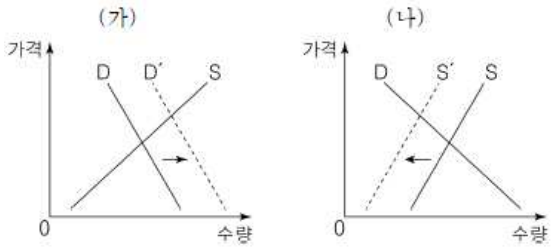

	(가)	(나)
①	소득 증가	선호도 하락
②	선호도 상승	생산비 상승
③	소비자 수 감소	원자재 가격 하락
④	생산 기술의 발전	미래 가격 상승 예상

73. 정답 ②

[해설]

② (가)는 수요 증가, (나)는 공급 감소에 해당한다. 소득 증가, 선호도 상승은 수요 증가 요인이고, 생산비 상승, 공급자의 미래 가격 상승 예상, 생산자에게 세금 부과는 공급 감소 요인이다.

74. (가)~(다)에 대한 일반적인 설명으로 옳은 것은? (단, (가)~(다)는 각각 가계, 기업, 정부 중 하나이다.)

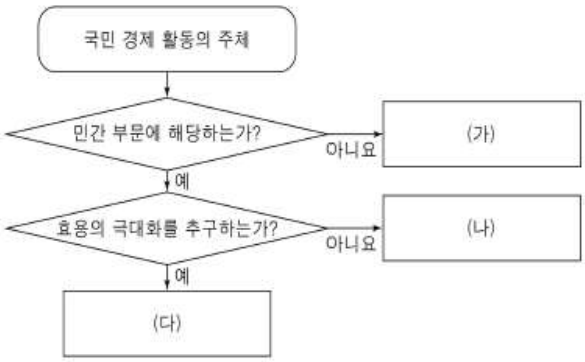

① (가)는 이윤 극대화를 추구한다.
② (나)는 생산 요소 시장의 공급자이다.
③ (나)의 경제 활동은 세금을 재원으로 한다.
④ (가)는 (다)와 달리 공공재를 생산한다.

74. 정답 ④

[해설]

(가)는 정부, (나)는 기업, (다)는 가계이다.

④ 정부는 공공재를 생산한다.

[오답 피하기]

① 이윤 극대화를 추구하는 것은 (나)이다.
② (나)는 생산 요소 시장의 수요자이다.
③ 세금을 재원으로 경제 활동을 하는 것은 (가)이다.

75. 밑줄 친 ㉠, ㉡에 대한 옳은 설명을 <보기>에서 고른 것은?

< 기>

ㄱ. ㉠은 일반적으로 비례세가 적용된다.
ㄴ. ㉡은 납세자와 담세자가 일치하지 않는다.
ㄷ. ㉠은 ㉡보다 조세 저항이 강하다.
ㄹ. ㉠은 간접세, ㉡은 직접세에 해당한다.

① ㄱ. ㄴ ② ㄱ, ㄷ
③ ㄴ, ㄷ ④ ㄴ, ㄹ

76. 그림은 X재와 Y재 시장을 나타낸다. 이에 대한 옳은 설명을 <보기>에서 고른 것은?

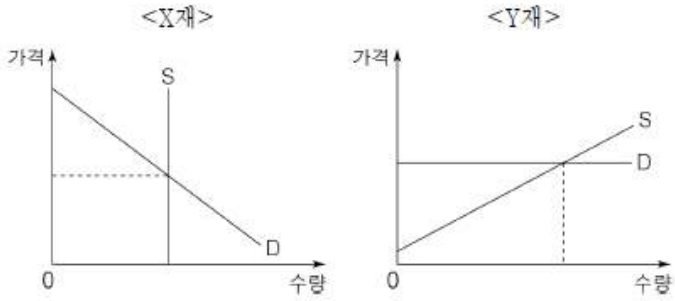

<보 기>

ㄱ. X재의 수요가 증가하면 소비자 잉여는 증가한다.
ㄴ. X재의 수요가 증가하면 사회적 잉여는 증가한다.
ㄷ. Y재의 공급이 증가하면 소비자 잉여는 증가한다.
ㄹ. Y재의 공급이 증가하면 생산자 잉여는 증가한다.

① ㄱ. ㄴ ② ㄱ, ㄷ
③ ㄴ, ㄷ ④ ㄴ, ㄹ

75. 정답 ③
[해설]
㉠은 직접세, ㉡은 간접세이다.
ㄴ. 간접세는 납세자와 담세자가 일치하지 않는다.
ㄷ. 직접세의 경우 조세 저항이 강하여 조세 징수가 어렵다.
[오답 피하기]
ㄱ. ㉠은 일반적으로 누진세가 적용된다.
ㄹ. 순서가 바뀌었다.

76. 정답 ④
[해설]
ㄴ. X재의 수요가 증가하면 사회적 잉여는 증가한다.
ㄹ. Y재의 공급이 증가하면 생산자 잉여는 증가한다.
[오답 피하기]
ㄱ. X재 시장에서 수요가 증가해도 소비자 잉여는 변함이 없다.
ㄷ. Y재 시장에서 소비자 잉여는 없다.

77. 다음 자료에 대한 설명으로 옳은 것은?

(가) 1940년대 공해상에서는 ㉠고래가 흔하게 발견되었다. 하지만 자유로운 조업으로 남획이 계속되어 개체수가 급감하였고, 이제는 고래를 찾아보기 어려워졌다.
(나) ㉡국방 서비스는 비용을 지불하지 않아도 누구에게나 제공되며, 한 사람이 국방 서비스의 혜택을 받더라도 다른 사람이 누리는 국방 서비스의 양은 변함이 없다.

① ㉠은 희소성이 없는 재화이다.
② ㉡은 ㉠과 달리 경합성을 가진다.
③ ㉠과 ㉡은 모두 비배제성을 갖는다.
④ (가)는 (나)와 달리 시장 실패가 나타난다.
⑤ (나)는 (가)와 달리 '공유지의 비극'과 같은 현상이 나타난다.

78. 표는 X재를 4개까지 소비할 때, X재의 단위당 가격과 갑, 을이 얻는 총편익을 나타낸다. 이에 대한 옳은 분석을 <보기>에서 고른 것은?

(단위: 개, 만 원)

소비량	1	2	3	4
X재 단위당 가격	5	5	5	5
갑의 총편익	10	19	27	34
을의 총편익	13	24	32	39

< 기>

ㄱ. 갑의 순편익은 X재 소비량이 증가할수록 감소한다.
ㄴ. 을은 X재 소비량이 4개일 때 순편익이 가장 크다.
ㄷ. X재 소비량을 2개에서 3개로 늘릴 때 추가되는 편익은 갑과 을이 동일하다.
ㄹ. 갑이 X재 3개를 소비할 때와 을이 X재 2개를 소비할 때 순편익은 동일하다.

① ㄱ, ㄴ ② ㄱ, ㄷ
③ ㄴ, ㄷ ④ ㄴ, ㄹ

77. 정답 ③
[해설]
㉠은 공유 자원, ㉡은 공공재이다.
③ 공유 자원은 비배제성과 경합성을 갖고, 공공재는 비배제성과 비경합성을 가진다.

78. 정답 ③
[해설]
ㄱ. 갑의 순편익은 증가한다.
ㄹ. 갑이 X재 3개를 소비할 때 순편익은 12만 원, 을이 X재 2개를 소비할 때 순편익은 14만 원이다.

79. 표는 갑국의 명목 GDP와 경제 성장률을 나타낸다. 이에 대한 옳은 분석을 <보기>에서 고른 것은? (단, 기준 연도는 2014년이다.)

(단위: 억 달러, %)

구분	2014년	2015년	2016년	2017년
명목 GDP	100	120	130	135
경제 성장률	0	10	0	10

< 기>

ㄱ. 2014년 이후 실질 GDP는 매년 증가하였다.
ㄴ. 명목 GDP와 실질 GDP의 차이는 2016년이 가장 크다.
ㄷ. 2014년과 2016년에는 명목 GDP와 실질 GDP가 동일하다.
ㄹ. 2015년 명목 GDP보다 2017년의 실질 GDP가 크다.

① ㄱ, ㄴ ② ㄱ, ㄷ
③ ㄴ, ㄷ ④ ㄴ, ㄹ

80. (가), (나)에 해당하는 재화에 대한 설명으로 옳은 것은?

(가) 인간의 욕구보다 많이 존재하여 대가의 지불 없이 소비할 수 있는 재화
(나) 인간의 욕구보다 적게 존재하여 대가를 지불해야만 소비할 수 있는 재화

① (가)는 희소성을 가지고 있다.
② (가)는 교환 가치는 있으나 사용 가치는 없다.
③ (나)는 시장에서 거래되지 않는다.
④ (나)는 선택에 따른 기회비용이 발생하지 않는다.
⑤ (가)는 시대에 따라 (나)로 변화하기도 한다.

79. 정답 ④

[해설]

(단위: 억 달러, %)

구분	2014년	2015년	2016년	2017년
명목 GDP	100	120	130	135
실질 GDP	100	110	110	121
경제 성장률	0	10	0	10

80. 정답 ⑤

[해설]

(가)는 자유(무상)재, (나)는 경제재이다.
③ 자유는 시대에 따라 경제재로 변화하기도 한다.

[오답 피하기]

①, ② 무상재는 희소성이 없는 재화로 교환 가치가 없다.
③, ④ (나)는 시장에서 거래되며, 선택에 따른 기회비용이 발생한다.

81. 그림은 외부 효과가 발생하고 있는 X재 시장을 나타낸다. 이에 대한 설명으로 옳은 것은? (단, S_0와 S_1은 각각 사적 비용만을 반영한 공급 곡선, 사회적 비용을 반영한 공급 곡선 중 하나이다.

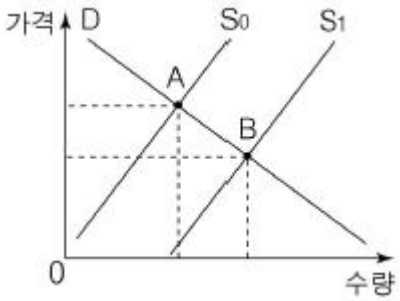

① A가 시장 균형점이면 생산 측면의 외부 불경제를 나타낸다.
② A가 시장 균형점이면 시장 가격은 사회적 최적 수준의 가격보다 높다.
③ B가 시장 균형점이면 사적 비용이 사회적 비용보다 크다.
④ B가 시장 균형점이면 생산자에게 보조금을 지급하여 외부 경제를 해결할 수 있다.

82. 다음 자료에 대한 분석 및 추론으로 옳은 것은? (단, 공급 곡선은 공급 법칙을 따르는 직선이며, 현재 X재 시장 균형점은 E이다.)

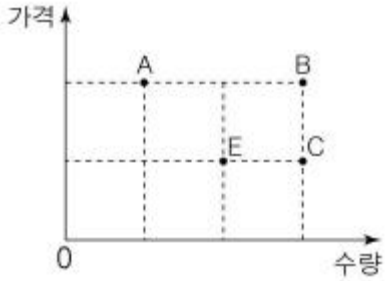

① 수요의 가격 탄력성이 완전 비탄력적일 때 공급이 감소하면 균형점은 A로 이동할 수 있다.
② 수요의 가격 탄력성이 완전 탄력적일 때 생산 요소 가격이 상승하면 균형점은 A로 이동할 수 있다.
③ 수요의 가격 탄력성이 완전 비탄력적일 때 수요가 감소하면 균형점은 B로 이동할 수 있다.
④ 수요의 가격 탄력성이 완전 비탄력적일 때 X재의 생산 기술이 발전하면 균형점은 C로 이동할 수 있다.

81. 정답 ②

[해설]

제시된 그래프는 생산 측면의 외부 효과를 나타낸다.

② 옳은 내용이다.

[오답 피하기]

① A가 시장 균형점이면 생산 측면의 외부 경제를 나타낸다.

③, ④ B가 시장 균형점이면 사회적 비용이 사적 비용보다 크고, 생산자에게 비용을 부과하여 최적 수준의 생산으로 유도할 수 있다.

82. 정답 ④

[해설]

④ X재의 생산 기술이 발전하면 공급이 증가하기 때문에 균형점은 C로 이동할 수 있다.

83. 그림은 갑국과 을국의 GDP와 GNP 영역을 나타낸다. A~D에 대한 옳은 설명을 <보기>에서 고른 것은?

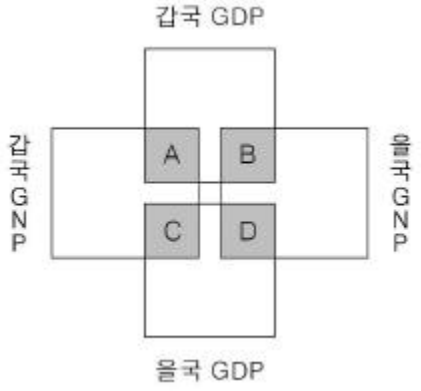

< 기>

ㄱ. 갑국 국민이 을국에 취업하여 얻은 소득은 A에 해당한다.
ㄴ. 을국의 전자 회사가 갑국 현지 공장에서 생산하여 얻은 수익은 B에 해당한다.
ㄷ. 을국 국민이 자국에서 자원봉사 활동을 늘려도 D는 증가하지 않는다.
ㄹ. 갑국과 을국 사이에 노동이나 자본의 이동이 확대될수록 B와 C 모두 감소한다.

① ㄱ. ㄴ ② ㄱ, ㄷ
③ ㄴ, ㄷ ④ ㄴ, ㄹ

83. 정답 ③

[해설]

ㄴ. 을국의 전자 회사가 갑국 현지 공장에서 생산하여 얻은 수익은 갑국의 GDP이고, 을국의 GNP이다.
ㄷ. 을국 국민이 자국에서 자원봉사 활동을 늘려도 자원봉사 활동은 시장에서 거래되는 것이 아니므로 을국의 GDP와 GNP는 증가하지 않는다.

[오답 피하기]

ㄱ. 갑국 국민이 을국에 취업하여 얻은 소득은 C에 해당한다.
ㄹ. 갑국과 을국 사이에 노동이나 자본의 이동이 확대될수록 B와 C는 증가할 것이다.

84. 표는 갑국에서 1년간 발생한 모든 생산 활동을 정리한 것이다. 이에 대한 설명으로 옳은 것은? (2019. 3월 학력평가)

생산물	총생산액 (만 달러)	생산물 거래 내역
밀	200	전량 밀가루의 원료로 판매됨.
우유	330	1/3은 빵의 원료로 판매되고, 2/3는 소비자에게 판매됨.
밀가루	300	1/2은 빵의 원료로 판매되고, 1/2은 소비자에게 판매됨.
빵	440	전량 소비자에게 판매됨.

① 최종 생산물은 빵뿐이다.
② 국내 총생산은 810만 달러이다.
③ 밀가루는 중간 생산물로만 사용되었다.
④ 빵 생산에서 발생한 부가 가치가 가장 크다.
⑤ 우유 생산에서 발생한 부가 가치는 20만 달러이다.

84. 정답 ②

[해설]

② 최종 생산물은 우유 2/3, 밀가루 1/2, 빵 전량이다. 그 금액은 각각 220만 달러, 150만 달러, 440만 달러이므로 이를 합한 810만 달러가 갑국의 국내 총생산이다.

85. 그림은 갑국의 국민 소득을 측정하는 각 측면을 나타낸다. 이에 대한 옳은 설명만을 <보기>에서 고른 것은? (단, 갑국은 다른 나라와 교역을 하고 있다.) (2019. 6월 수능 모의평가)

< 기>

ㄱ. (가)에는 '최종 생산물의 시장 가치 합'이 들어갈 수 있다.
ㄴ. ㉠은 기업 입장에서는 비용이며, 가계 입장에서는 소득이다.
ㄷ. ㉡은 음(-)의 값을 가질 수 없다.
ㄹ. 갑국의 수입이 증가하면 생산 국민 소득과 지출 국민 소득은 일치하지 않는다.

① ㄱ, ㄴ ② ㄱ, ㄷ ③ ㄴ, ㄷ ④ ㄴ, ㄹ

85. 정답 ①

[해설]

㉠은 임금, ㉡은 순수출이다.

ㄱ. 생산 국민 소득은 GDP를 의미하며 '일정 기간 국내에서 생산된 최종 생산물의 시장 가치 합'으로 정의할 수 있다.

ㄴ. 임금은 기업 입장에서 생산 비용에 포함되며, 계 입장에서 소득에 포함된다.

[오답 피하기]

ㄷ. 수입이 수출보다 많으면 순수출은 음(-)의 값을 가진다.

ㄹ. 수입이 증가 또는 감소해도 생산 국민 소득과 지출 국민 소득은 일치한다.

86. 다음 자료는 2018년 A국에서 발생한 경제 활동을 나타낸다. 이에 대한 옳은 분석을 <보기>에서 고른 것은? (2019. 7월 학력평가)

◦ 갑은 2018년 B국에서 소고기를 5,000만 원어치 수입하여 육포로 만들어 7,000만 원의 매출을 올렸다.
◦ 을은 식빵 전문점을 운영하는데 2018년 국내에서 생산된 밀가루를 2,000만 원어치 구입하였다. 그 중 100만 원어치는 가정에서 소비하고 나머지는 모두 식빵을 만들어 2,400만 원의 매출을 올렸다.

<보 기>

ㄱ. 갑이 소고기를 수입하기 위해 지출한 금액은 A국 GDP에 포함된다.
ㄴ. 을이 가정에서 소비한 밀가루는 A국의 GDP에 포함된다.
ㄷ. 갑이 창출한 부가 가치는 을이 창출한 부가 가치보다 작다.
ㄹ. A국 GDP에 포함되는 금액의 합계는 4,500만 원이다.

① ㄱ, ㄴ ② ㄱ, ㄷ ③ ㄴ, ㄷ ④ ㄴ, ㄹ

86. 정답 ④

[해설]

ㄱ. 갑이 소고기 수입을 위해 지출한 금액은 A국 GDP에 포함되지 않는다.

ㄷ. 갑이 창출한 부가 치는 을이 창출한 부가 가치보다 크다.

87. 그림은 국의 명목 GDP와 실질 GDP의 전년 대비 변화율을 나타낸 것이다. 이에 대한 옳은 분석만을 <보기>에서 고른 것은? (단, 물가 수준은 GDP 디플레이터로 측정한다.) (2019. 10월 학력평가)

< 기>

ㄱ. 2016년은 명목 GDP가 실질 GDP보다 크다.
ㄴ. 2017년의 GDP 디플레이터는 10이다.
ㄷ. 2018년의 물가는 전년에 비해 하락하였다.
ㄹ. 2017년과 2018년의 실질 GDP는 동일하다.

① ㄱ, ㄴ ② ㄱ, ㄷ ③ ㄴ, ㄷ ④ ㄴ, ㄹ

87. 정답 ②

[해설]

ㄱ. 기준 연도인 2015년에는 명목 GDP와 실질 GDP가 같다. 2016년에는 명목 GDP 변화율이 실질 GDP 변화율보다 크므로 2016년의 명목 GDP는 실질 GDP보다 크다.

ㄷ. 2018년에는 전년 대비 실질 GDP의 변화율이 명목 GDP의 변화율보다 크므로 GDP 디플레이터는 전년 대비 감소한다. 따라서 2018년에는 전년 대비 물가가 하락한다

88. 그림은 국민 경제의 순환을 나타낸다. 이에 대한 설명으로 옳은 것은? (2019. 1월 대학수학능력시험)

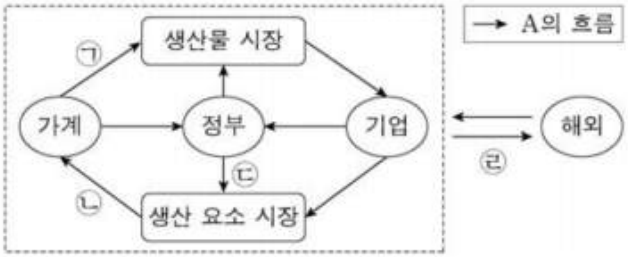

① A는 '실물'이다.
② 서비스는 ㉠에 해당한다.
③ ㉡은 소비 활동의 원천이 된다.
④ 법인세는 ㉢에 해당한다.
⑤ 수출은 ㉣에 해당한다.

88. 정답 ③

[해설]

㉡은 가계가 생산 요소 제공의 대가로 얻는 소득이다. 가계 소득은 소비나 저축으로 처분된다.

① 가계는 생산 요소 시장에서 소득을 얻으므로 A는 실물이 아니라 화폐이다.
② ㉠은 재화나 서비스의 구입 대가로 가계가 지급하는 금액이다.
④ ㉢은 정부가 생산 요소의 구입 대가로 지급하는 금액이다.
⑤ ㉣은 외국에 지급하는 수입 대금이다.

89. 갑국에서 표의 A, B 상황이 발생할 경우 갑국 국민 경제의 균형점 E가 이동할 영역으로 옳은 것은? (2020. 3월 학력평가)

구분		수입 원자재 가격	
		상승	하락
정부 지출	증가	A	
	감소		B

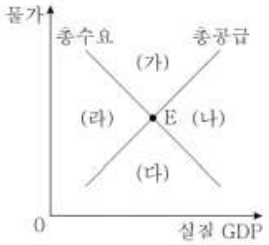

	A	B
①	(가)	(나)
②	(가)	(다)
③	(나)	(가)
④	(나)	(라)
⑤	(라)	(다)

90. 표는 총수요 및 총공급 변동을 나타낸다. 변동 (가)~(라)의 요인으로 가장 적절한 것은? (2020. 4월 학력평가)

구분		총공급	
		증가	감소
총수요	증가	(가)	(나)
	감소	(다)	(라)

	변동	총수요 측 요인	총공급 측 요인
①	(가)	민간 소비 증가	생산 기술 향상
②	(나)	정부 지출 증가	생산 요소 가격 하락
③	(다)	민간 투자 감소	생산 요소 가격 상승
④	(라)	정부 지출 감소	생산 요소 투입량 증가
⑤	(라)	순수출 증가	생산 기술 향상

89. 정답 ②

[해설]

② 수입 원자재 가격 변화는 총공급의 변동 요인이고, 정부 지출의 변화는 총수요의 변동 요인이다. 총수요 가 증가하고 총공급이 감소하면 국민 경제의 균형점 E는 (가) 영역으로 이동하게 된다.

90. 정답 ①

[해설]

② 생산 요소 가격 하락은 총공급 증가 요인이다.

③ 생산 요소 가격 상승은 총공급 감소 요인이다.

④ 생산 요소 투입량 증가는 총공급 증가 요인이다.

⑤ 순수출 증가는 총수요 증가 요인이고, 생산 기술 향상은 총공급 증가 요인이다.

91. 밑줄 친 ㉠~㉣에 대한 옳은 설명만을 <보기>에서 고른 것은? (2020. 7월 학력평가)

> 갑은 2019년 1월에 회사에 입사하여 ㉠1년간 월 300만 원의 임금을 받으며 일해 왔다. 2020.년 4월, 갑은 을이 운전하던 차량에 치이는 사고를 당했다. 갑은 두 달간 입원하게 되어 ㉡1,000만 원의 입원비와 치료비를 지불하였다. 을은 파손된 차량을 폐차하고, ㉢작년에 국내에서 생산된 자동차를 ㉣자가용으로 구매하였다.

< 기>

ㄱ. ㉠은 2019년 분배 국민 소득에 포함된다.
ㄴ. ㉡은 2020.년 명목 GDP 증가 요인에 해당한다.
ㄷ. ㉢은 2020.년 실질 GDP에 포함된다.
ㄹ. ㉣은 2020.년 투자 지출 증가 요인에 해당한다.

① ㄱ, ㄴ ② ㄱ, ㄷ ③ ㄴ, ㄷ ④ ㄷ, ㄹ

91. 정답 ①

[해설]

ㄷ. ㉢은 작년에 생산되었으므로 2019년 실질 GDP에 포함된다.

ㄹ. ㉣은 2020.년 민간 소비 지출 증가 요인에 해당한다

92. 그림은 갑국 국민 경제의 변동을 나타낸다. 이러한 변화를 가져올 수 있는 옳은 요인만을 <보기>에서 고른 것은? (2020. 9월 수능 모의평가)

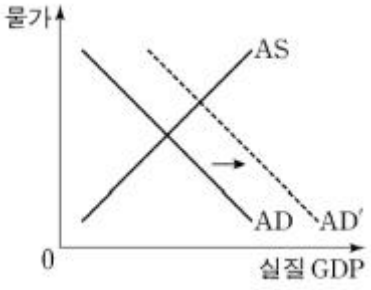

<보 기>

ㄱ. 생산 기술 발전
ㄴ. 정부 지출 증가
ㄷ. 중앙은행의 국공채 매각
ㄹ. 금융 기관에 대한 중앙은행의 대출 확대

① ㄱ, ㄴ ② ㄱ, ㄷ ③ ㄴ, ㄷ ④ ㄴ, ㄹ ⑤ ㄷ, ㄹ

92. 정답 ④

[해설]

제시된 자료에서 총수요가 증가하여 실질 GDP 증가, 물가 수준은 상승하였다.

ㄴ. 정부 지출은 총수요의 구성 요소로서 정부 지출 증가는 총수요의 증가 요인이다.

ㄹ. 금융 기관에 대한 중앙은행의 대출이 확대되면 시중 은행의 대출 자금이 증가하여 통화량이 증가하는 요인이 되고 통화량의 증가는 총수요의 증가 요인이 된다.

[오답 피하기]

ㄱ. 생산 기술 발전은 총공급의 증가 요인이다.

ㄷ. 중앙은행의 국공채 매각은 통화량이 감소하는 요인이 되고 통화량의 감소는 총수요의 감소 요인이 된다.

93. 다음 자료에 대한 옳은 분석 및 추론만을 <보기>에서 고른 것은? (2020. 12월 대학수학능력시험)

표는 갑국의 연도별 전년 대비 물가 상승률을 나타낸다. 물가 상승률은 GDP 디플레이터를 이용하여 산출되었으며 기준 연도는 2015년이다.

구분	2013년	2014년	2015년	2016년
물가 상승률(%)	3	2	1	-1

< 기>

ㄱ. 2013년 실질 GDP는 명목 GDP보다 작다.
ㄴ. 2014년 GDP 디플레이터는 10보다 작다.
ㄷ. 2014년과 2015년의 명목 GDP가 같다면 실질 GDP는 2014년이 2015년보다 작다.
ㄹ. 2016년 경제 성장률이 음(-)의 값을 갖는다면 명목 GDP는 2016년이 2015년보다 작다.

① ㄱ, ㄴ ② ㄱ, ㄷ ③ ㄴ, ㄷ ④ ㄴ, ㄹ

93. 정답 ④

[해설]

기준 연도인 2015년의 GDP 디플레이터는 100이다.

ㄴ. 2015년은 2014년에 비해 물가가 상승하였으므로 2014년 GDP 디플레이터는 100보다 작다.

ㄹ. 2016년 경제 성장률이 음이면 실질 GDP가 감소한 것이므로 GDP 디플레이터가 음의 값을 가지기 위해서는 명목 GDP도 감소해야 한다.

[오답 피하기]

ㄱ. 2013년 GDP 디플레이터는 100보다 작으므로 명목 GDP 보다 실질 GDP가 크다.

ㄷ. 2014년 GDP 디플레이터는 100보다 작은데 2015년과 명목 GDP가 같다면 실질 GDP는 2014년이 2015년보다 크다.

94. 교사의 질문에 대한 학생의 답변으로 옳은 것은? (2019. 4월 학력평가)

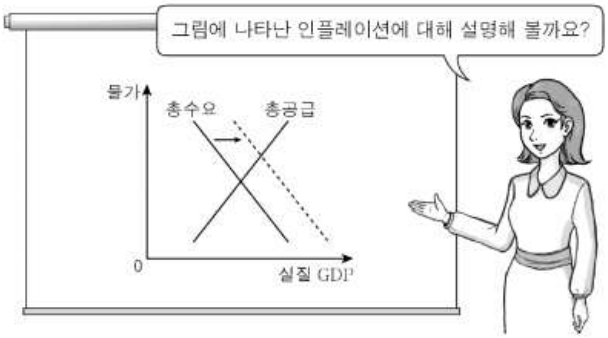

① 기술 혁신으로 인한 생산성 향상을 발생 요인으로 들 수 있습니다.
② 화폐의 실질 구매력이 높아집니다.
③ 민간 소비 증가를 발생 요인으로 들 수 있습니다.
④ 수입 원자재 가격 상승을 발생 요인으로 들 수 있습니다.

94. 정답 ③

[해설]

제시된 자료는 수요 견인 인플레이션을 나타낸다.

① 기술 혁신으로 인한 생산성 향상은 총공급의 증가 요인이다.

② 인플레이션이 발생하면 화폐의 실질 구매력은 낮아진다.

④ 수입 원자재 가격 상승은 총공급의 감소 요인이다.

95. 그림의 (가)에 들어갈 내용으로 가장 적절한 것은? (단, 15세 이상 인구는 일정하고, 다른 요인은 고려하지 않는다.)

오랫동안 구직 활동을 했으나 취업에 성공하지 못해 구직을 포기한 사람이 크게 늘면서 ____가____

① 고용률이 하락했습니다.
② 실업률이 상승했습니다.
③ 비경제 활동 인구가 감소했습니다.
④ 경제 활동 참가율이 하락했습니다.

95. 정답 ④

[해설]

④ 구직 활동을 하던 사람이 구직 활동을 포기하면 실업자 수는 줄고 비경제 활동 인구는 늘어나게 된다. 그러므로 경제 활동 참가율은 하락한다.

[오답 피하기]

① 고용률은 변함이 없다.
② 실업률이 하락한다.
③ 비경제 활동 인구는 증가한다.

96. 다음 자료에 대한 분석으로 옳은 것은? (2019. 4월 학력평가)

갑국에서는 지속적인 저출산 현상과 더불어 기술 혁신에 따른 산업 구조 개편으로 인해 표와 같은 고용 지표 변화가 나타났다.

구분	T년	T+10년	T+20년
15세 이상 인구(만 명)	500	500	500
경제 활동 참가율(%)	80	70	50
취업자 수(만 명)	360	310	220

① T년과 T+10년의 경제 활동 인구는 같다.
② T+10년보다 T+20년의 비경제 활동 인구가 적다.
③ T+10년보다 T+20년의 실업자 수가 많다.
④ T년보다 T+20년의 실업률이 높다.

96. 정답 ④

[해설]

④ T년보다 T+20년의 실업률이 높다. 아래 표 참조.

구분	T년	T+10년	T+20년
15세 이상 인구	500	500	500
경제 활동 인구	400	350	250
비경제 활동 인구	100	150	250
취업자 수	360	310	220
실업자 수	40	40	30
경제 활동 참가율	80	70	50
실업률	10	약 11.4	12
고용률	72	62	44

[오답 피하기]

① T년의 경제 활동 인구가 T+10년의 경제 활동 인구이 보다 많다.
② T+10년보다 T+20년의 비경제 활동 인구가 많다.
③ T+10년보다 T+20년의 실업자 수가 적다.

97. 그림은 갑국의 고용 관련 통계 변화를 나타낸다. 이에 대한 옳은 분석만을 <보기>에서 고른 것은? (단, 15세 이상 인구는 일정하다.) (2019. 6월 수능 모의평가)

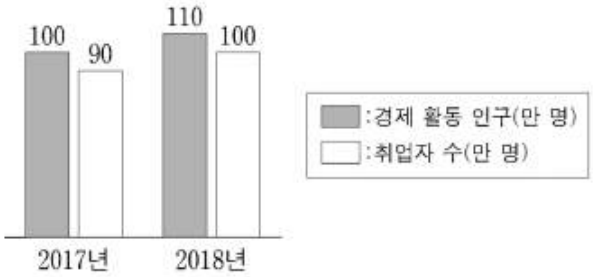

< 기>

ㄱ. 고용률은 상승했다.
ㄴ. 실업자 수는 감소했다.
ㄷ. 경제 활동 참가율은 상승했다.
ㄹ. 비경제 활동 인구는 변함이 없다.

① ㄱ, ㄴ ② ㄱ, ㄷ
③ ㄴ, ㄷ ④ ㄴ, ㄹ

97. 정답 ②
[해설]
ㄱ. 취업자 수는 전년보다 증가했으므로 고용률은 상승했다.
ㄷ. 경제 활동 인구가 전년보다 증가했으므로 경제 활동 참가율은 상승했다.
[오답 피하기]
ㄴ. 실업자 수는 10만 명으로 전년과 동일하다.
ㄹ. 경제 활동 인구가 전년보다 증가했으므로 비경제 활동 인구는 감소했다.

98. 다음 사례에 대한 옳은 분석을 <보기>에서 고른 것은? (단, 갑국~병국의 15세 이상 인구는 변화가 없다.) (2019. 7월 학력평가)

◦ 갑국에서는 4차 혁명과 관련된 연구 분야의 고용자 수가 크게 증가하였고, 증가한 고용자 수만큼 경제 활동 인구도 증가하였다.
◦ 을국에서는 무인 생산 시스템이 보편화되어 제조업 분야에서 대규모의 실업이 발생하였고, 경제 활동 인구는 변함이 없다.
◦ 병국에서는 사상 최대의 취업난 속에서 꾸준히 구직 활동을 해 오던 수많은 청년들이 직업을 구하지 못해 구직 활동을 포기하였다.

<보 기>

ㄱ. 갑국의 실업률은 상승하였다.
ㄴ. 을국은 구조적 실업이 발생하여 고용률이 하락하였다.
ㄷ. 병국의 취업률은 하락하였다.
ㄹ. 병국은 갑국과 달리 경제 활동 참가율이 하락하였다.

① ㄱ, ㄴ ② ㄱ, ㄷ ③ ㄴ, ㄷ ④ ㄴ, ㄹ ⑤ ㄷ, ㄹ

98. 정답 ④
[해설]
ㄴ. ㄹ. 옳은 내용이다.
[오답 피하기]
ㄱ. 갑국의 실업률은 하락하였다.
ㄷ. 병국의 취업률은 상승하였다.

99. 그림은 비자발적 실업의 유형 A~C를 발생 원인에 따라 분류한 것이다. 이에 대한 옳은 설명만을 <보기>에서 고른 것은? (2019. 9월 수능 모의평가)

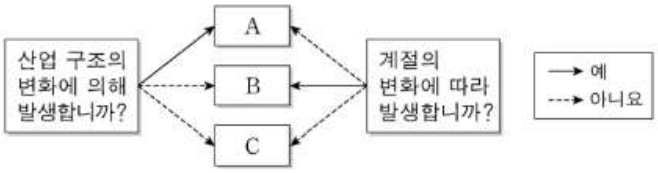

< 기>

ㄱ. 기술 혁신으로 인한 단순 기능 인력의 실업은 A에 해당한다.
ㄴ. B는 경기가 호황일 때에도 나타날 수 있다.
ㄷ. C는 직업 탐색의 과정에서 일시적으로 발생한다.
ㄹ. B는 구조적 실업, C는 경기적 실업이다.

① ㄱ, ㄴ ② ㄱ, ㄷ ③ ㄴ, ㄷ ④ ㄴ, ㄹ ⑤ ㄷ, ㄹ

100. 그림은 갑국의 연도별 고용 지표 관련 인구 비율을 나타낸다. 2017년에서 2018년으로의 변화에 대한 옳은 분석만을 <보기>에서 고른 것은? (단, 15세 이상 인구는 변화가 없다.) (2019. 1월 대학수학능력시험)



<보 기>

ㄱ. 실업률은 상승하였다.
ㄴ. 고용률은 하락하였다.
ㄷ. 경제 활동 참가율은 상승하였다.
ㄹ. 실업자 수 증가율이 비경제 활동 인구 감소율보다 작다.

① ㄱ, ㄴ ② ㄱ, ㄷ ③ ㄴ, ㄷ ④ ㄴ, ㄹ ⑤ ㄷ, ㄹ

99. 정답 ④

[해설]

A는 구조적 실업, B는 계절적 실업, C는 경기적 실업이다.

ㄱ. 기술 혁신으로 인한 단순 기능 인력의 실업은 구조적 실업이다.
ㄴ. 계절적 실업은 경기와 무관하게 계절적 요인에 의해 발생하는 실업이다.
ㄷ. 직업 탐색의 과정에서 일시적으로 발생하는 실업은 마찰적 실업이며 이는 자발적 실업에 해당한다.
ㄹ. B는 계절적 실업이다.

100. 정답 ②

[해설]

ㄱ. 취업자 수의 변화는 없으나 실업자 수가 증가했으므로 실업률은 상승하였다.
ㄷ. 경제 활동 참가율은 75%에서 80%로 상승하였다.

[오답 피하기]

ㄴ. 취업자 수의 변화가 없으므로 고용률도 변화가 없다.
ㄹ. 실업자 수의 증가율은 10%이며, 비경제 활동 인구 감소율은 20%이다

101. 표에 대한 옳은 설명만을 <보기>에서 고른 것은? (2020. 3월 학력평가)

구분	갑국		을국	
	2018년	2019년	2018년	2019년
물가 상승률(%)	2	㉠	1	4
명목 이자율(%)	2	4	2	㉡

< 기>

ㄱ. 2018년의 실질 이자율은 갑국이 을국보다 낮다.
ㄴ. ㉠이 2이면 2019년 갑국의 물가 수준은 전년과 동일하다.
ㄷ. ㉡이 3이면 2019년 을국의 실질 이자율은 음(-)의 값이다.
ㄹ. ㉠, ㉡이 모두 1이면 2019년에 갑국과 을국 모두 실질 이자율이 전년보다 낮다.

① ㄱ, ㄴ ② ㄱ, ㄷ ③ ㄴ, ㄷ ④ ㄴ, ㄹ ⑤ ㄷ, ㄹ

101. 정답 ②

[해설]

ㄱ. 2018년의 실질 이자율은 갑국은 0%, 을국은 양 (+)의 값을 갖는다.
ㄷ. ㉡이 3이면 2019년 을국의 물가 상승률이 명목 이자율보다 높으므로 실질 이자 율은 음(-)의 값을 갖는다

[오답 피하기]

ㄴ. ㉠이 2이면 2019년 갑국의 물가 수준은 전년보다 2% 상승하였음을 의미한다.
ㄹ. 실질 이자율은 명목이자율-물가상승률이므로 ㉠이 1이면 실질 이자율은 -3으로 전년보다 낮지만, ㉡이 1이면 2019년 을국의 실질 이자율은 3이 되어 전년보다 높다.

102. 그림은 교사의 수업 장면이다. 이에 대한 설명으로 옳은 것은? (2020. 4월 학력평가)

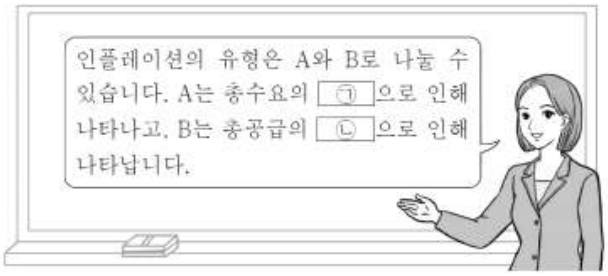

① ㉠에는 '감소', ㉡에는 '증가'가 들어갈 수 있다.
② A는 비용 인상 인플레이션이다.
③ B의 발생 요인으로 수입 원자재 가격 하락을 들 수 있다.
④ B와 달리 A가 나타날 경우 스태그플레이션이 발생할 수 있다.
⑤ A와 달리 B가 나타날 경우 실질 GDP는 감소한다.

102 정답 ⑤

[해설]

A는 수요 견인 인플레이션, B는 비용 인상 인플레이션이다. 수요 견인 인플레이션은 총수요의 증가로 인해 나타나고, 비용 인상 인플레이션은 총공급의 감소로 인해 나타난다.
⑤ 수요 견인 인플레이션은 실질 GDP가 증가하지만, 비용 인상 인플레이션은 실질 GDP가 감소한다.

[오답 피하기]

① ㉠에는 '증가', ㉡에는 '감소'가 들어갈 수 있다.
② A는 수요 견인 인플레이션이다.
③ 수입 원자재 가격 하락은 총공급 증가 요인이다.
④ A와 달리 B가 나타날 경우 스태그플레이션이 발생할 수 있다.

103. 표는 갑국의 연도별 경제 활동 참가율과 실업률은 나타낸다. 이에 대한 옳은 분석만을 <보기>에서 고른 것은? (단, 갑국의 15세 이상 인구는 변함이 없다.) (2020. 4월 학력평가)

(단위: %)

구분	2017년	2018년	2019년
경제 활동 참가율	70	70	69
실업률	5	4	5

< 기>

ㄱ. 2019년의 비경제 활동 인구는 2017년보다 감소하였다.
ㄴ. 2019년의 경제 활동 인구는 2018년보다 감소하였다.
ㄷ. 2019년의 실업자 수는 2018년보다 감소하였다.
ㄹ. 2018년의 고용률은 2017년보다 상승하였다.

① ㄱ, ㄴ ② ㄱ, ㄷ ③ ㄴ, ㄷ ④ ㄴ, ㄹ ⑤ ㄷ, ㄹ

103. 정답 ④

[해설]

경제 활동 참가율은 15세 이상 인구에서 경제 활동 인구가 차지하는 비율이고, 실업률은 경제 활동 인구에서 실업자가 차지하는 비율이다.

ㄴ. ㄹ. 옳은 내용이다.

[오답 피하기]

ㄱ. 2019년의 비경제 활동 인구는 2017년보다 증가하였다.
ㄷ. 2019년의 실업자 수는 2018년보다 증가하였다.

104. 그림은 갑국의 고용 관련 인구 변화를 나타낸다. 2018년에서 2019년으로의 변화에 대한 분석으로 옳은 것은? (단 15세 이상 인구는 변화가 없다.) (2020. 6월 수능 모의평가)

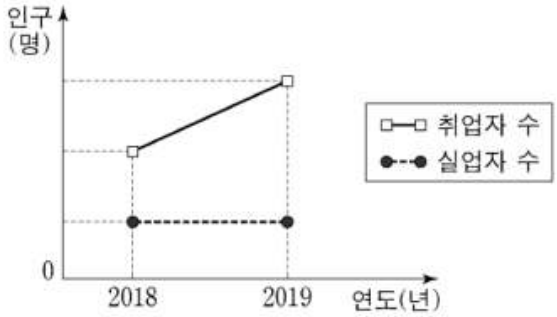

① 고용률은 하락하였다.
② 실업률은 하락하였다.
③ 경제 활동 참가율은 하락하였다.
④ 비경제 활동 인구는 증가하였다.
⑤ 취업자 수보다 경제 활동 인구가 더 크게 증가하였다.

104. 정답 ②

[해설]

2019년 갑국의 취업자 수는 전년보다 증가했고 실업자 수의 변화는 없다. 따라서 경제 활동 인구는 증가, 비경제 활동 인구는 감소했다.

② 실업률은 실업자 수를 경제 활동 인구로 나눈 값으로 계산하는데 실업자 수는 불변, 경제 활동 인구는 증가했으므로 실업률은 하락했다.

[오답 피하기]

① 고용률은 취업자 수를 15세 이상 인구로 나눈 값으로 계산하는데 취업자 수가 증가했으므로 고용률은 상승했다.
③ 경제 활동 참가율은 경제 활동 인구를 15세 이상 인구로 나눈 값으로 계산하는데 경제 활동 인구가 증가했으므로 경제 활동 참가율은 상승했다.
④ 비경제 활동 인구는 감소했다.
⑤ 실업자 수의 변화가 없으므로 취업자 수와 경제 활동 인구는 동일한 수만큼 증가했다.

105. 다음 자료에 대한 설명으로 옳은 것은? (2020. 6월 수능 모의평가)

> 인플레이션이랑 물가가 지속적으로 상승하는 현상으로 화폐 가지의 (가) 을/를 의미한다. 특히 ㉠ 예상하지 못한 인플레이션은 소득과 부의 의도하지 않은 재분배를 가져올 수 있어 문제가 된다. 인플레이션의 유형은 그 원인에 따라 ㉡ 수요 견인 인플레이션과 ㉢ 비용 인상 인플레이션으로 구분된다.

① (가)에는 '상승'이 들어갈 수 있다.
② ㉠이 발생하면 채권자는 채무자에 비해 유리해진다.
③ 민간 소비 증가는 ㉡의 발생 요인이다.
④ 원자재 가격 하락은 ㉢의 발생 요인이다.
⑤ ㉡과 ㉢은 모두 실질 GDP의 감소를 동반한다.

105. 정답 ③

[해설]

수요 견인 인플레이션의 발생 원인은 총수요의 증가이며, 비용 인상 인플레이션의 발생 원인은 총공급의 감소이다.

③ 민간 소비는 총수요의 구성 요소로, 민간 소비의 증가는 수요 견인 인플레이션의 발생 원인으로 작용한다.

[오답 피하기]

① 물가가 상승하면 화폐 가치는 하락한다.
② 예상하지 못한 인플레이션이 발생하는 경우 일반적으로 화폐 자산 보유자인 채권자는 불리해진다.
④ 원자재 가격 하락은 총공급의 증가 요인이다.
⑤ 수요 견인 인플레이션이 발생하면 실질 GDP는 증가하며, 비용 인상 인플레이션이 발생하면 실질 GDP는 감소한다.

106. 표는 갑국의 고용 지표 변화를 나타낸다. t년 대비 t+10년의 변화에 대한 분석으로 옳은 것은? (2020. 7월 학력평가)

(단위: 만 명, %)

구분	취업자 수	고용률	경제 활동 참가율
t년	630	63	90
t+10년	720	60	75

① 실업률은 상승하였다.
② 경제 활동 인구는 감소하였다.
③ 15세 이상 인구는 변함이 없다.
④ 비경제 활동 인구는 증가하였다.

106. 정답 ④

[해설]

④ 아래 표와 같이 비경제 활동 인구는 증가하였다.

<고용 지표 변화>

(단위: 만 명)

구분	t년	t+10년
15세 이상 인구	1,000	1,200
경제 활동 인구	900	900
취업자 수	630	720
실업자 수	270	180
비경제 활동 인구	100	300

[오답 피하기]

① 실업률은 30%에서 20%로 하락하였다.
② 경제 활동 인구는 변함이 없다.
③ 15세 이상 인구는 1,00만 명에서 1,20만 명으로 증가하였다.

107. 그림의 대화에 대한 분석 및 추론으로 가장 적절한 것은? (단, (가)와 (나)는 각각 수요 견인 인플레이션, 비용 인상 인플레이션 중 하나이며, 총수요 곡선은 우하향하고 총공급 곡선은 우상향한다.) (2020. 9월 수능 모의평가)

① ㉠이 발생하면 채권자가 채무자보다 유리해진다.
② 생산비 상승은 (가)의 요인이 될 수 있다.
③ (가)가 발생하면 실질 GDP가 증가한다.
④ (나)는 스태그플레이션으로 이어질 수 있다.
⑤ (나)에 대한 대책으로 지급 준비율 인하를 들 수 있다.

107 정답 ②

[해설]

(가)는 비용 인상 인플레이션이고, (나)는 수요 견인 인플레이션이다.

② 생산비의 상승은 총공급의 감소로 인한 비용 인상 인플레이션의 요인이 될 수 있다.

[오답 피하기]

① 인플레이션이 발생하면 일반적으로 채무자가 채권자보다 유리해진다.

③ 비용 인상 인플레이션이 발생하면 실질 GDP는 감소한다.

④ 경기 침체와 물가 상승이 동시에 발생하는 현상인 스태그플레이션을 초래할 수 있는 인플레이션은 비용 인상 인플레이션에 해당한다.

⑤ 지급 준비율을 인하할 경우 통화량이 증가하여 수요 견인 인플레이션이 심화될 수 있다.

108. 표는 갑국의 고용 관련 통계를 나타낸다. 2018년 대비 2019년에 나타난 변화에 대한 설명으로 옳은 것은? (2020. 10월 학력평가)

구분	2018년	2019년
15세 이상 인구(만 명)	100	120
경제 활동 참가율(%)	80	75
고용률(%)	60	60

① 실업률은 상승하였다.
② 실업자 수는 증가하였다.
③ 취업자 수는 감소하였다.
④ 경제 활동 인구는 증가하였다.

108. 정답 ④

[해설]

④ 2018년 경제 활동 인구는 80만 명에서 2019년 90만 명으로 증가하였다.

109. 그림은 갑국 ○○경제 연구소의 정책 제안 보고서 일부이다. (가), (나)에 들어갈 수 있는 내용으로 옳은 것은? (2019. 6월 수능 모의평가)

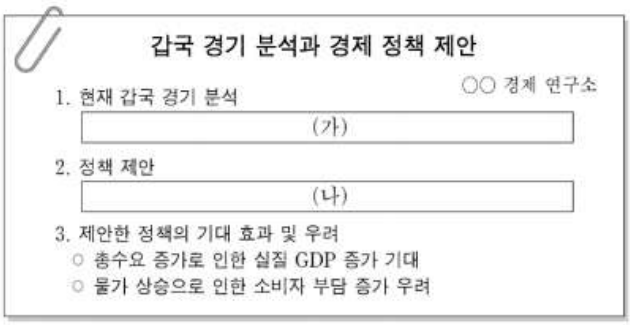
갑국 경기 분석과 경제 정책 제안

○○ 경제 연구소

1. 현재 갑국 경기 분석

(가)

2. 정책 제안

(나)

3. 제안한 정책의 기대 효과 및 우려

○ 총수요 증가로 인한 실질 GDP 증가 기대

○ 물가 상승으로 인한 소비자 부담 증가 우려

	(가)	(나)
①	경기 침체	소득세율 인상
②	경기 침체	국・공채 매입
③	경기 과열	정부 지출 감소
④	경기 과열	지급 준비율 인상

109. 정답 ②

[해설]

② 기대 효과가 총수요 증가이므로 제안한 정책은 확대 재정 또는 확대 통화 정책이다. 이러한 정책은 경기 침체 상황에서 경기를 회복시키기 위한 목적으로 실시된다. (나)에서 확대 재정 또는 확대 통화 정책 수단은 국.공채 매입밖에 없다

110. 그림은 국민 경제 균형점 E의 변화에 대한 갑~병의 예상을 나타낸다. 이에 대한 설명으로 옳은 것은? (단, 총수요 곡선은 우하향하는 직선이고, 총공급 곡선은 우상향하는 직선이다.) (2019. 6월 수능 모의평가)

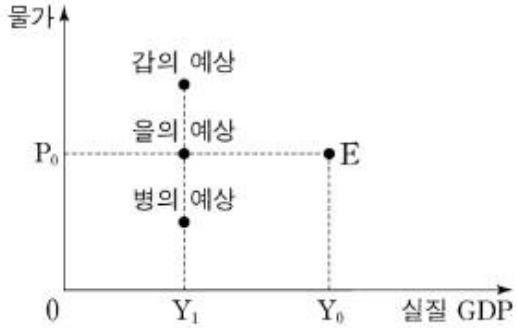

① 갑은 수요 견인 인플레이션을 예상하고 있다.

② 을은 스태그플레이션을 예상하고 있다.

③ 병은 총수요의 감소를 예상하고 있다.

④ 갑, 을은 모두 총수요와 총공급이 증가할 것으로 예상하고 있다.

110. 정답 ③

[해설]

물가와 실질 GDP의 변화를 바탕으로 총수요와 총공급의 변화를 추론할 수 있다.

③ 총수요가 감소하면 물가는 하락하고 실질 GDP는 감소한다.

[오답 피하기]

① 수요 견인 인플레이션이 발생하면 물가는 상승하고 실질 GDP는 증가한다.

② 스태그플레이션은 경기 침체하의 인플레이션을 의미한다. 그런데 을은 물가 수준의 변화가 없을 것으로 예상하고 있다.

④ 총수요와 총공급이 모두 증가하면 실질 GDP는 증가한다. 그런데 갑과 을은 모두 실질 GDP가 감소할 것으로 예상하고 있다.

111. 다음 A, B 상황에서 필요한 경제 안정화 정책으로 적절한 것은? (2019. 7월 학력평가)

A는 경기 과열로 인플레이션이 발생한 상황이고, B는 경기침체로 실업률이 높아진 상황이다. 중앙은행은 이 상황을 해결하기 위한 적절한 경제 안정화 정책을 고려하고 있다. 단, E는 경기가 안정된 상황이다.

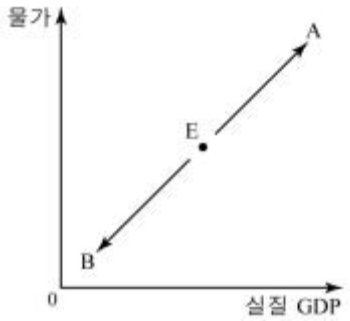

	A	B
①	국공채 매각	재할인율 인상
②	국공채 매입	지급 준비율 인하
③	재할인율 인상	지급 준비율 인상
④	지급 준비율 인상	국공채 매입

111. 정답 ④

[해설]

A는 긴축 통화 정책, B는 확대 통화 정책이 필요한 상황이다.

④ A에서는 국.공채 매각, 재할인율 인상, 지급 준비율 인상이 적절하다.

112. 그림은 갑국의 경제 뉴스이다. 이에 대한 설명으로 옳은 것은?(2019. 9월 수능 모의평가)

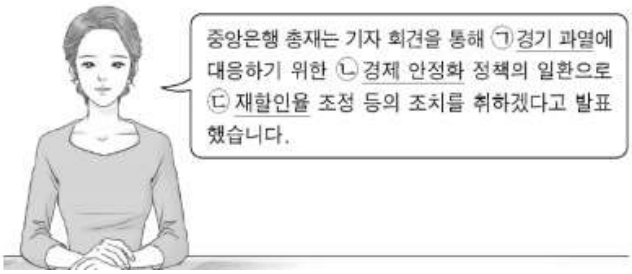

① ㉠ 상황에서는 일반적으로 실업률이 상승한다.

② 정부는 ㉠ 상황에 대응하기 위해 정부 지출을 늘릴 것이다.

③ 중앙은행은 ㉡을 위해 국・공채를 매입할 것이다.

④ 중앙은행이 ㉡에 성공한다면 물가 상승률은 높아질 것이다.

⑤ 중앙은행은 ㉢을 인상할 것이다.

112. 정답 ⑤

[해설]

경기 과열에 대한 대책으로 정부는 긴축 재정 정책을 중앙은행은 긴축 통화 정책을 실시한다. 재할인율 인상은 긴축 통화 정책의 수단이다.

[오답 피하기]

① 경기 과열시에는 일반적으로 물가는 상승하고 실업률은 하락한다.

② 정부 지출 증가는 정부의 확대 재정 정책 수단이다. 경기 과열시에는 긴축 재정 정책의 수단으로 정부 지출을 감소시킨다.

③ 국공채 매입으로 통화량은 증가하고 이자율은 하락한다. 따라서 국공채 매입은 확대 통화 정책의 수단이다.

④ 경기 과열을 진정시키는 대책이 성공하면 물가는 하락한다. 따라서 물가 상승률은 낮아진다.

113.. 그림은 갑국 국민 경제의 변동을 나타낸다. (가), (나)에 각각 해당하는 옳은 요인만을 <보기>에서 고른 것은? (2019. 9월 수능 모의평가)

< 기>

ㄱ. 주가 지수의 폭락으로 민간의 소비가 감소하였다.
ㄴ. 주요 생산품인 반도체의 생산 기술이 향상되었다.
ㄷ. 무역 분쟁으로 인해 주요 산업에 필수적인 원자재 수입이 급감하였다.
ㄹ. 정부가 기업의 연구 개발(R&D) 투자에 대한 세금 감면을 실시하였다.

	(가)	(나)		(가)	(나)
①	ㄱ	ㄴ	②	ㄱ	ㄷ
③	ㄴ	ㄷ	④	ㄴ	ㄹ

113. 정답 ②

[해설]

(가)는 총수요 감소, (나)는 총공급 감소의 경우이다.

ㄱ. 민간 소비의 감소는 총수요의 감소로 이어진다.

ㄷ. 원자재 수입이 감소하면 생산에 필요한 생산 요소의 양이 감소하여 총공급 감소로 이어진다.

[오답 피하기]

ㄴ. 생산 기술의 향상은 총공급의 증가로 이어진다.

ㄹ. 연구 개발 투자에 대한 세금 감면은 투자 증가로 이어져 총수요가 증가한다.

114. 그림은 갑국 국민 경제 균형의 변동을 나타낸다. (가), (나)의 변동 요인으로 옳은 것은? (단, 총수요 곡선은 우하향하고 총공급 곡선은 우상향한다.) (2019. 1월 대학수학능력시험)

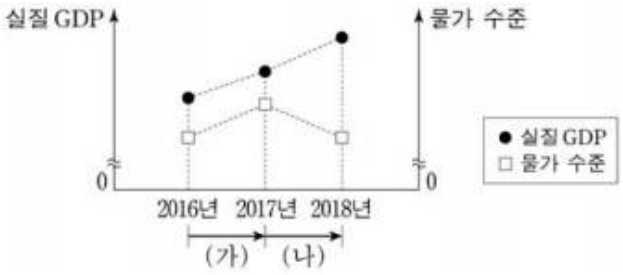

	(가)	(나)
①	민간 소비 증가	생산 기술 향상
②	순수출 증가	임금 상승
③	민간 투자 증가	원자재 가격 상승
④	기준 금리 인상	노동 인구 감소
⑤	소비세율 인상	노동 생산성 하락

114. 정답 ②

[해설]

(가)는 실질 GDP와 물가가 모두 상승한 구간이고, (나)는 물가는 하락하였으나 실질 GDP는 증가한 구간이다. 따라서 (가)는 총수요 증가에 따른 결과이고, (나)는 총공급 증가의 결과에 따른 결과이다.

① 순수출 증가는 총수요 증가 요인이고, 생산 기술 향상은 총공급 증가 요인이다.

[오답 피하기]

② 순수출 증가는 총수요 증가 요인이고, 임금 상승은 총공급 감소 요인이다.

③ 민간 투자 증가는 총수요 증가 요인이고, 원자재 가격 상승은 총공급 감소 요인이다.

④ 기준금리 인상은 총수요 감소 요인이고, 노공 인구 감소는 총공급 감소 요인이다.

⑤ 소비세율 인상은 총수요 감소 요인이고, 노동 생산성 향상은 총공급 감소 요인이다.

115. 다음 설명 중 옳은 것은?

① 주가 지수의 폭락으로 민간의 소비가 감소할 경우 물가는 상승한다.

② 주요 생산품인 반도체의 생산 기술이 향상될 경우 물가는 상승하고 실질 GDP는 증가한다.

③ 무역 분쟁으로 인해 주요 산업에 필수적인 원자재 수입이 급감할 경우 물가는 하락하고 실질 GDP는 감소한다.

④ 정부가 기업의 연구 개발(R&D) 투자에 대한 세금 감면을 실시할 경우 실질 GDP는 증가한다.

116. 그림 (가)는 총수요의 구성을, (나)는 국민 경제의 균형점과 균형점의 이동 방향 A, B를 나타낸 것이다. 이에 대한 설명으로 옳은 것은? (2019. 3월 학력평가)

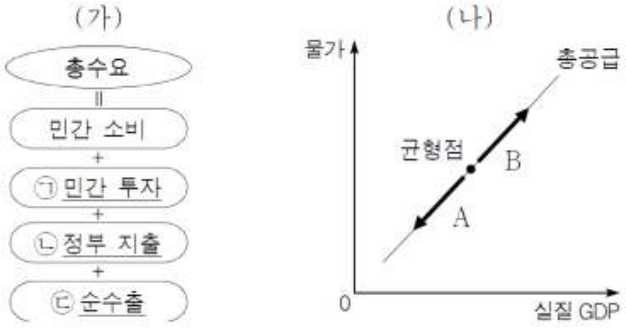

① 금리가 상승하면 ㉠이 증가한다.

② ㉢은 수출액에서 생산 비용을 뺀 것이다.

③ ㉡이 증가하면 A와 같은 이동이 나타난다.

④ 원유 가격 하락은 A와 같은 이동의 요인이다.

⑤ 가계 소득 증가는 B와 같은 이동의 요인이다.

115. 정답 ④

[해설]

④ 정부가 기업의 연구 개발(R&D) 투자에 대한 세금 감면을 실시할 경우 총공급이 증가하고 이로 인해 실질 GDP는 증가한다.

[오답 피하기]

① 주가 지수의 폭락으로 민간의 소비가 감소할 경우 총수요의 감소로 물가는 하락한다.

② 반도체의 생산 기술이 향상될 경우 총공급이 증가하고 이 경우 물가는 하락하고 실질 GDP는 증가한다.

③ 주요 산업에 필수적인 원자재 수입이 급감할 경우 총공급이 감소하여 물가는 상승하고 실질 GDP는 감소한다.

116. 정답 ⑤

[해설]

⑤ 총공급이 주어진 상황에서 총수요가 증가하면 B, 총수요가 감소하면 A와 같은 균형점의 이동이 나타난다. 가계 소득이 증가하면 민간 소비가 늘어나 총수요가 증가하고 균형점은 B와 같이 이동한다.

117. 표는 경기 상황별 경제 안정화 정책을 정리한 것이다. (가)~(라)에 대한 설명으로 옳은 것은? (2019. 3월 학력평가)

구분	경기 침체	경기 과열
정부의 재정 정책	(가)	(나)
중앙은행의 통화 정책	(다)	(라)

① (가)에는 '지급 준비율 인하'가 들어갈 수 있다.
② (나)에는 '세율 인하'가 들어갈 수 있다.
③ (다)에는 '국공채 매입'이 들어갈 수 있다.
④ (가), (다)는 모두 통화량을 감소시키는 요인이다.
⑤ (가), (나)와 달리 (다), (라)는 총수요를 변동시키는 요인이다.

117. 정답 ③

[해설]

③ 경기 침체 상황에서 중앙은행이 취할 수 있는 확대 통화 정책에는 국공채를 매입하는 방법이 있다.

[오답 피하기]

① 지급 준비율 인하는 중앙 은행이 경기 침체 시 취할 수 있는 정책이다.
② (나)에는 세율 인상이 들어갈 수 있다.
④ 통화량을 감소시키는 정책은 긴축 통화 정책이다. (다)는 통화량을 증가시키는 요인이고, (라)는 통화량을 감소시키는 요인이다.
⑤ (가)와 (다)는 총수요를 증가시키는 요인이고, (나)와 (라)는 총수요를 감소시키는 요인이다. 따라서 (가)~(라)는 모두 총수요를 변동시키는 요인이다.

118. 밑줄 친 ㉠, ㉡에 대한 설명으로 옳은 것은? (단, 갑국의 경기 침체는 총수요의 변동에 의해 나타났다.) (2020. 4월 학력평가)

◇◇ 신문 □□□□년 □□월 □□일

지난달 갑국의 ○○ 경제 연구소는 보고서를 통해 갑국의 경기 침체가 심화될 것이라는 전망을 내놓았다. 이와 인식을 같이하고 있는 갑국 정부는 ㉠경기 침체를 극복할 수 있는 재정 정책을 시행하기로 결정하였다. 갑국 중앙은행 또한 ㉡경기를 활성화할 수 있는 통화 정책을 실시할 예정이다.

① ㉠의 실시는 물가를 하락시키는 요인이다.
② ㉡의 실시는 실질 GDP를 감소시키는 요인이다.
③ ㉠의 수단으로 소득세율 인하를 들 수 있다.
④ ㉡의 수단으로 국공채 매각을 들 수 있다.

118. 정답 ③

[해설]

㉠은 확대 재정 정책, ㉡은 확대 통화 저책이다.

③ 소득세율 인하는 확대 재정 정책으로 경기 침체를 극복할 수 있는 재정 정책이다.

[오답 피하기]

① 확대 재정 정책의 실시는 물가를 상승시키는 요인이다.
② 확대 통화 정책의 실시는 실질 GDP를 증가시키는 요인이다.
④ 국공채 매각은 긴축 통화 정책의 수단에 해당한다.

119. 그림은 갑국 중앙은행의 보도 자료이다. 이를 통해 중앙은행이 실시할 것으로 예상되는 정책으로 옳은 것은? (2020. 7월 학력평가)

보도 자료
제목: 2021년 경제 전망
○ 세계 교역 부진 심화, 반도체 경기 위축 등으로 설비 투자와 수출이 악화되고 민간 소비도 감소할 것으로 예상 - 경제 성장률은 -2%대 초반으로 나타날 전망 - 소비자 물가 상승률은 -1% 내외로 나타날 전망

① 국공채 매입
② 소득세율 인하
③ 기준 금리 인상
④ 지급 준비율 인상

119. 정답 ①

[해설]

① 갑국 중앙은행은 총수요 감소로 인한 경기 침체를 예상하고 있으므로 국공채 매입, 지급 준비율 인하 등 확대 통화 정책을 실시할 것이다.

[오답 피하기]

② 소득세율 인하와 같은 확대 재정 정책은 갑국 정부가 실시한다.

120. (가), (나)는 국민 경제 균형점의 변동 방향을 나타낸다. 이에 대한 설명으로 옳은 것은? (단, 현재 균형점은 E이다.) (2020. 10월 학력평가)

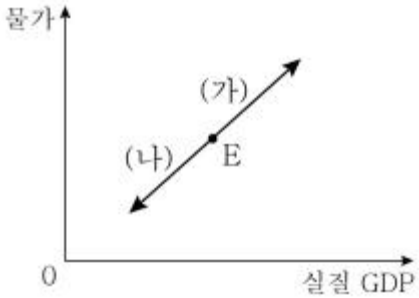

① 정부 지출 축소는 (가)의 요인이다.
② (가)는 기업의 투자 지출 확대로 나타날 수 있다.
③ 중앙은행의 국·공채 매입은 (나)의 요인이다.
④ (나)는 물가 안정과 함께 경제 성장을 동반한다.

120. 정답 ②

[해설]

② 기업의 투자 지출 확대는 총수요 증가 요인이다. 총수요가 증가하면 균형점은 우상향으로 이동한다.

[오답 피하기]

① 정부 지출 축소는 총수요의 감소로 (나)의 요인이다.
③ 중앙은행의 국·공채 매입은 총수요 증가 요인으로 (가)의 요인이다.
④ (나)는 물가 안정은 이룰 수 있지만, 경제 침체를 가져올 수 있다.

121. 다음 자료에 대한 옳은 분석을 <보기>에서 고른 것은? (2019. 7월 학력평가)

그림은 X재와 Y재만을 생산하는 갑국과 을국의 생산 가능 곡선을 나타낸다. 양국은 비교 우위가 있는 재화의 생산에만 특화한 후 교역하여 양국 모두 이득을 얻었다. 교역은 거래 비용 없이 양국 간에만 이루어지며 양국이 보유한 생산 요소의 양은 같다. a점은 교역 후 을국의 소비점이다.

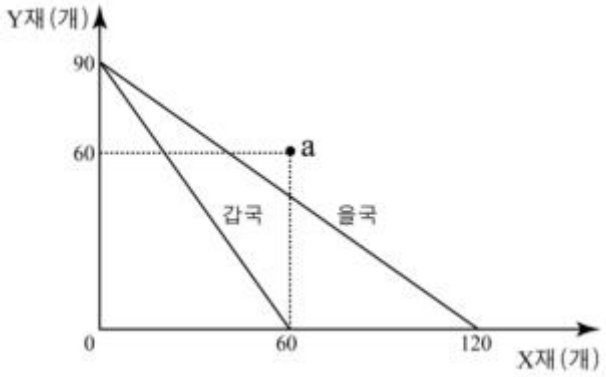

< 기>

ㄱ. X재와 Y재의 교환 비율은 1:1이다.
ㄴ. 교역 후 갑국은 X재 60개와 Y재 30개를 동시에 소비할 수 있다.
ㄷ. 교역 후 을국의 Y재 1개 소비의 기회비용은 증가한다.
ㄹ. 을국의 X재 1개 생산의 기회비용은 갑국보다 크다.

① ㄱ, ㄴ ② ㄱ, ㄷ ③ ㄴ, ㄷ ④ ㄴ, ㄹ ⑤ ㄷ, ㄹ

121. 정답 ①

[해설]

X재 1개 생산의 기회비용은 갑국은 Y재 3/2개, 을국은 Y재 3/4개이다. Y재 1개 생산의 기회비용은 갑국은 X재 2/3개, 을국은 X재 4/3개이다. 갑국은 Y재 생산, 을국은 X재 생산에 비교 우위가 있으므로 갑국은 Y재 90개, 을국은 X재 120개를 특화하여 생산한다.

ㄱ. 을국이 X재 120개를 특화하여 생산하였으나, 교역 후 a점 X재 60개와 Y재 60개를 동시에 소비가 가능하였으므로 이는 (0,120)→(60,60)으로 1:1의 비율로 X재와 Y재를 교환하였다.

ㄴ. X재와 Y재의 교환 비율은 1:1이므로 갑국은 교역 후 X재 60개와 Y재 30개를 동시에 소비할 수 있다.

[오답 피하기]

ㄷ. 교역 후 을국의 Y재 1개 소비의 기회비용은 감소한다.

ㄹ. 을국의 X재 1개 생산의 기회비용은 갑국보다 작다.

129. 다음 자료에 대한 분석 및 추론으로 옳은 것은? (2019. 1월 대학수학능력시험)

그림은 갑국의 X재 시장 상황을 나타낸다. 갑국에서는 시기 별로 다음과 같은 상황이 전개되었다.

t기: 갑국은 외국과 X재를 교역하지 않으며 시장 균형 E에서 거래가 이루어짐.

⬇

t+1기: 갑국 정부가 무역에 참여하기로 결정하여 X재를 국제 가격 P_W에서 제한 없이 거래하게 됨.

⬇

t+2기: 무역이 지속되는 상황에서 갑국 정부가 세수 증대를 위해 X재 생산자에게 단위당 ㉠의 세금을 부과함.

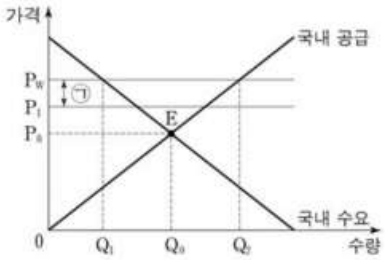

① t+1기에 갑국은 X재를 수입하였을 것이다.
② t+1기에 갑국에서 Q_0Q_2의 초과 공급이 발생하였을 것이다.
③ t+2기에 갑국의 X재 무역량은 Q_1Q_2보다 적었을 것이다.
④ 갑국의 X재 시장 가격은 t+2기가 t+1기보다 높았을 것이다.
⑤ t+2기에 갑국의 X재 조세 수입은 $P_1P_W \times Q_2$이다.

122. 정답 ③

[해설]

③ t+2기에 세금 부과로 인해 X재 국내 공급이 감소하여 갑국의 X재 무역량은 이전의 Q1Q2보다 감소하게 된다.

[오답 피하기]

① 국제 가격이 국내 가격보다 높으므로 갑국은 X재를 수출하게 된다.
② t+1기에 갑국에서는 Q1Q2의 초과 공급이 발생한다.
④ 갑국의 X재 시장 가격은 t+1기와 t+2기 모두 국제 가격인 PW이다.
⑤ t+2기에 갑국의 X재 생산량이 Q2보다 적으므로 갑국의 X재 조세 수입은 P1PW×Q2보다 작다.

123. 다음 대화에 대한 분석 및 추론으로 옳은 것은? (2019. 4월 학력평가)

① 을은 달러화 대비 원화의 가치 상승을 예상하고 있다.
② 미국인의 한국 내 투자 증가는 ㉠의 요인이다.
③ 미국산 상품에 대한 한국의 수입 증가는 ㉠의 요인이다.
④ ㉠이 지속될 경우 미국에서 유학 중인 자녀에게 송금하는 한국 부모의 경제적 부담은 감소할 것이다.

123. 정답 ④

[해설]

④ 외환 시장에서 달러화 공급이 증가하면 원/달러 환율이 하락하므로 투숙시 결제하는 것이 유리하다.

[오답 피하기]

① 환율이 변화하면 원화로 환산한 숙박비도 변화한다.
② 원화 대비 달러 가치 하락, 즉 환율이 하락하면 투숙시 결제하는 것이 유리하다.
③ 달러화 대비 원화 가치 하락, 즉 환율이 상승하면 지금 결제하는 것이 유리하다.

124. 표는 외환 시장에서 전년 대비 원화 가치 변동률을 나타낸다. 이에 대한 분석 및 추론으로 옳은 것은? (단, 환율 변동 이외의 다른 조건은 고려하지 않는다) (2019. 7월 학력평가)

구분	2017년	2018년
달러화 대비 원화 가치 변동률(%)	5	2
위안화 대비 원화 가치 변동률(%)	3	−2

① 2017년 원/달러 환율은 전년보다 상승하였다.
② 2017년 미국 시장에서 한국산 제품의 가격 경쟁력은 전년보다 약화되었다.
③ 2017년 한국에서 유학 중인 자녀를 둔 미국과 중국 학부모의 학비 부담이 전년보다 감소하였다.
④ 2018년 달러 표시 외채가 있는 한국 기업의 상환 부담은 전년보다 증가하였다.

124. 정답 ②

[해설]

원/달러 환율은 2017년과 2018년 모두 하락하였다. 원/위안 환율은 2017년에는 하락, 2018년에는 상승하였다.

② 2017년 원/달러 환율이 하락하여 원화의 가치는 상승되었으므로 미국 시장에서 한국산 제품의 가격 경쟁력은 전년보다 약화되어 수출이 감소한다.

[오답 피하기]

① 원/달러 환율은 2017년과 2018년 모두 하락하였다.
③ 2017년 한국에서 유학 중인 자녀를 둔 미국과 중국 학부모의 학비 부담은 모두 전년보다 증가하였다.
④ 2018년 달러 표시 외채가 있는 한국 기업의 상환 부담은 전년보다 감소하였다.

125. 밑줄 친 ㉠, ㉡을 나타내기에 적절한 그림만을 <보기>에서 고른 것은? (2020. 6월 수능 모의평가)

> 국내 금리의 변화는 일반적으로 원/달러 환율에 영향을 끼친다. 국내 금리가 상승하면 국내 소비와 투자가 줄어들어 ㉠상품의 수입이 감소하여 외환 시장에 변화가 나타난다. 또한 높아진 금리를 통해 이익을 얻으려는 ㉡해외 자본이 유입되어 외환 시장에 변화가 나타난다.

< 기>

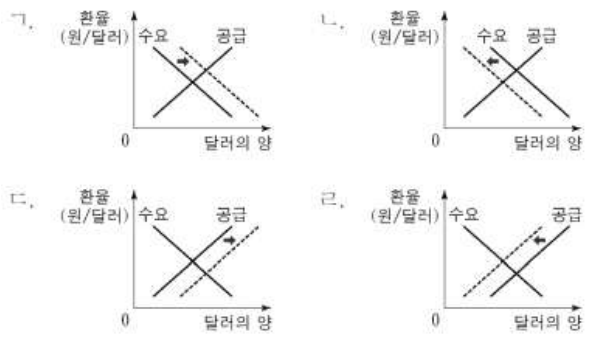

	㉠	㉡		㉠	㉡
①	ㄱ	ㄴ	②	ㄱ	ㄷ
③	ㄴ	ㄷ	④	ㄴ	ㄹ

125. 정답 ③

[해설]

③ 국내 금리 상승으로 상품 수입이 감소하면 외환 시장에서 외화에 대한 수요가 감소한다. 또한 높아진 금리로 인해 해외 자본이 유입되므로 외환 시장에서 외화의 공급이 증가한다. 따라서 ㉠의 변화는 외화 수요의 감소이며, ㉡의 변화는 외화 공급의 증가이다

126. (가)에 들어갈 내용으로 가장 적절한 것은? (단, 환율 변동 이 외의 조건은 고려하지 않는다.) (2020. 7월 학력평가)

> ○○신문
>
> 최근 국제 신용 평가 기관이 우리나라의 신용 등급을 상향 조정하였다. 이와 함께, 미국 내 금리가 인하되어 상대적으로 우리나라 이자율이 높아지면서 미국 투자자들의 국내 투자가 증가하고 있다. 이러한 상황은 지속될 것으로 보인다. 그 결과, 외환 시장의 환율 변동으로 _____ (가) _____

① 미국시장에서한국산제품의가격경쟁력은높아질 것이다.

② 달러 표시 외채를 상환해야 하는 한국 기업의 부담이 증가할 것이다.

③ 자녀를 미국으로 유학 보낸 한국 학부모들의 학비 부담이 증가할 것이다.

④ 달러로 수입 대금을 결제해야 하는 한국 기업은 지급 시기를 미루는 것이 유리할 것이다.

126. 정답 ④

[해설]

외환 시장에서 외환 공급의 증가로 환율 하락이 지속될 것으로 보인다.

④ 환율 하락이 지속될 경우 원화의 가치는 상승하므로 달러로 수입 대금을 결제해야 하는 한국 기업은 지급 시기를 미루는 것이 유리하다.

[오답 피하기]

① 미국 시장에서 한국산 제품의 가격 경쟁력은 낮아질 것이다.

② 달러 외채를 상환해야 하는 한국 기업의 부담이 감소할 것이다.

③ 자녀를 미국으로 유학 보낸 한국 학부모들의 학비 부담이 감소할 것이다.

127. 표는 미국 달러화 대비 각국 통화 가치의 변화율을 나타낸다. 이에 대한 분석으로 옳은 것은? (단, 국제 거래는 미국 달러화로만 이루어진다.) (2020. 12월 대학수학능력시험)

구분	미국 달러화 대비 각국 통화 가치의 변화율(%)
우리나라 원화	10
갑국 통화	-15
을국 통화	-5

① 갑국 통화/미국 달러 환율이 상승하였다.
② 갑국 통화 대비 을국 통화의 가치가 하락하였다.
③ 갑국 기업이 상환해야 하는 미국 달러화 표시 채무 부담이 감소하였다.
④ 미국에서 부품을 수입하는 을국 기업의 대금 지급 부담이 감소하였다.

127. 정답 ①

[해설]

① 달러화 대비 갑국 통화 가치가 하락하였으므로 갑국 통화/달러 환률은 상승한다.

[오답 피하기]

② 을국 통화보다 달러화 대비 갑국 통화의 가치가 더 많이 하락하였으므로 갑국 통화 대비 을국 통화의 가치는 상승한다.
③ 갑국 통화/달러 환율이 상승하였으므로 갑국 기업의 달러 상환 부담은 증가한다.
④ 을국 통화/달러 환율이 상승하여 을국 통화의 가치가 하락하여 미국에서 부품을 수입하는 을국 기업의 대금 지급 부담이 증가하였다.

128. 표는 갑국의 연도별 경상 수지의 구성을 나타낸다. 이에 대한 설명으로 옳은 것은? (단, 2018년 경상 수지는 균형이다.) (2019. 4월 학력평가)

(단위: 억 달러)

구분	2017년	2018년
상품 수지	220	250
서비스 수지	−150	−140
본원 소득 수지	20	㉠
㉡	−20	0

① ㉠은 '10'이다.
② ㉡에는 갑국 정부의 해외 무상 원조금이 포함된다.
③ 2018년 갑국의 상품 수출액은 전년보다 증가하였다.
④ 2018년 갑국의 지식 재산권 사용료가 포함되는 항목은 흑자를 기록하였다.
⑤ 2017년 갑국의 경상 수지는 달러화 대비 갑국 화폐의 가치 하락 요인이다.

128. 정답 ②

[해설]

② 옳은 설명이다. ㉡은 이전 소득 수지이므로 갑국 정부의 해외 무상 원조금이 포함된다.

[오답 피하기]

① 2018년 경상수지는 균형을 이룬다고 하였으므로 경상수지 각 항목을 모두 더하면 0이 되어야 한다. 따라서 ㉠은 '−110'이다.
③ 각 연도의 상품 수지만으로는 상품 수출액 증감 여부를 알 수 없다.
④ 갑국의 지식 재산권 사용료가 포함되는 항목인 서비스 수지는 2018년에 적자를 기록하였다.
⑤ 2017년 갑국의 경상 수지는 달러화 대비 갑국 화폐의 가치 상승 요인이다

129. 표는 갑국의 국제 수지 추이를 나타낸다. 이에 대한 분석으로 옳은 것은? (단, 오차 및 누락은 0이다.) (2019. 7월 학력평가)

(단위: 억 달러)

구분	2016년	2017년	2018년
경상 수지	115	130	125
자본 수지	−20	−35	−15
금융 계정 (준비 자산 제외)	−90	−85	−90

① 2017년에 외화의 유출이 유입보다 많았다.
② 2017년에 저작권 사용료가 포함된 항목은 적자이다.
③ 2018년의 수출액은 전년보다 감소했다.
④ 2016년 이후 국제 수지 변화는 환율의 상승 요인이다.
⑤ 2016년 이후 국제 수지 변화는 국내 물가 상승 요인이다.

129. 정답 ⑤

[해설]

⑤ 2016년 이후 국제 수지 변화는 흑자이므로 이는 국내 물가 상승 요인이다.

[오답 피하기]

① 2017년에는 외화의 유입이 유출보다 많았다.
② 2017년에 저작권 사용료가 포함된 항목은 서비스 수지로서 경상수지에 포함되므로 이는 흑자이다.
③ 모든 연도의 수출액은 알 수 없다.
④ 2016년 이후 국제 수지 변화는 환율 하락 요인이다.

130. 그림은 갑국의 연도별 경상 수지를 나타낸다. 이에 대한 분석으로 옳은 것은? (2020. 4월 학력평가)

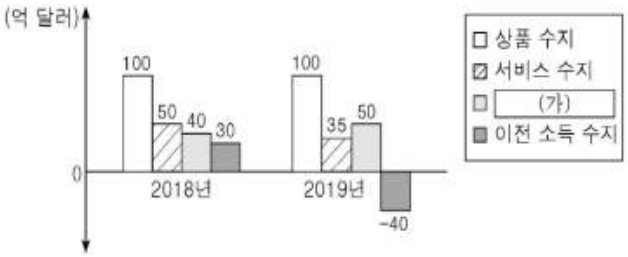

① 갑국 거주자의 해외 주식 투자금은 (가)에 반영된다.
② 2018년 경상 수지는 외화 보유액 증가 요인이다.
③ 경상 거래 규모는 2019년보다 2018년이 크다.
④ 상품 수출을 통한 수취액은 2018년과 2019년이 같다.

130. 정답 ②

[해설]

② 2018년 경상수지는 흑자이므로 2018년 경상 수지는 외화 보유액 증가 요인이다.

[오답 피하기]

① (가)는 본원 소득 수지이고, 해외 주식 배당금과 달리 투자금은 금융계정에 해당한다.
③ 국제수지표를 통해 경상 거래 규모는 알 수 없다.
④ 상품 수출을 통한 수취액은 알 수 없으므로 2018년과 2019년이 같은지는 알 수 없다.

131. 그림은 갑국의 경상 수지에 대한 신문 기사이다. 밑줄 친 ㉠~ ㉣에 대한 옳은 설명만을 <보기>에서 고른 것은? (2020. 6월 수능 모의평가)

□□신문 2020년 ○○월 ○○일

작년 갑국의 ㉠ 경상 수지가 104억 달러 흑자로 기록되었다. 그러나 전년에 비해 ㉡ 서비스 수지 적자 폭이 커진 것에 대한 우려는 물론, 전년보다 증가한 ㉢ 상품 수지 흑자도 수출과 수입이 줄어 발생한 ㉣ 불황형 흑자라는 지적이 나오고 있다.

< 기>

ㄱ. ㉠은 갑국의 통화량 감소 요인이다.
ㄴ. ㉡에는 갑국 국민이 해외여행에서 사용한 경비가 포함된다.
ㄷ. ㉢에는 갑국이 외국에 무상으로 제공하는 구호물자가 포함된다.
ㄹ. ㉣은 갑국에서 상품의 수출보다 수입이 더 크게 줄어 나타난 것이다.

① ㄱ, ㄴ ② ㄱ, ㄷ
③ ㄴ, ㄷ ④ ㄴ, ㄹ

132. 표는 2019년 갑국과 을국의 경상 수지 항목별 외화 유입액과 유출액을 나타낸다. 이에 대한 분석으로 옳은 것은? (단, 갑국은 경상 수지 20억 달러 흑자, 을국은 30억 달러 적자를 기록하였다.) (2020. 7월 학력평가)

(단위: 억 달러)

구분	갑국		을국	
	외화 유입액	외화 유출액	외화 유입액	외화 유출액
상품 수지	100	100	135	155
서비스 수지	70	90	115	95
본원 소득 수지	50	㉠	50	40
이전 소득 수지	20	10	㉡	50

① ㉠은 '10', ㉡은 '30'이다.
② 갑국의 경상 수지는 외화 대비 갑국 화폐 가치 하락의 요인이다.
③ 을국은 운송료가 포함된 항목에서 20억 달러 흑자이다.
④ 을국은 갑국과 달리 임금이 포함된 항목에서 흑자를 기록하였다.
⑤ 갑국과 을국 모두 해외 무상 원조 금액이 포함된 항목에서 흑자를 기록하였다.

131. 정답 ④

[해설]

2019년 갑국의 경상 수지와 그 구성 항목인 상품 수지는 흑자, 서비스 수지는 적자를 기록하였다.

ㄴ. 자국 국민이 해외여행에서 사용한 경비는 서비스 수지에 포함된다.

ㄹ. 상품의 수출과 수입이 모두 줄었는데 상품 수지 흑자를 기록한 것은 상품의 수출보다 수입이 더 크게 줄 때 나타날 수 있다.

[오답 피하기]

ㄱ. 경상 수지 흑자는 통화량 증가 요인이다.

ㄷ. 외국에 무상으로 제공하는 구호물자는 경상 수지 항목 중 이전 소득 수지에 포함된다.

132. 정답 ③

[해설]

③ 운송료가 포함된 항목은 서비스 수지이므로 을국의 서비스 수지는 20억 달러 흑자이다.

[오답 피하기]

① ㉠은 '20'이고, ㉡은 '10'이다.

② 갑국의 경상 수지는 흑자이므로 외화의 공급이 증가하여 환율이 하락한다. 따라서 외화 대비 갑국 화폐의 가치는 상승한다.

④ 임금이 포함된 항목은 본원 소득 수지로 양국 모두 흑자를 기록하였다.

⑤ 해외 무상 원조 금액이 포함된 항목은 이전 소득 수지로 갑국은 흑자, 을국은 적자를 기록하였다.

133. 그림은 갑국의 명목 이자율과 물가 상승률의 변화를 나타낸다. 이에 대한 분석으로 옳은 것은? (2019. 6월 수능 모의평가)

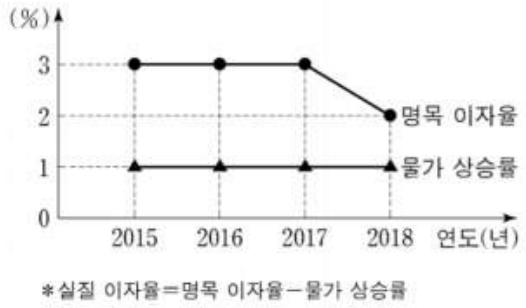

① 물가는 일정하게 유지되었다.
② 실질 이자율은 지속적으로 하락하였다.
③ 실질 이자율은 양(+)의 값을 유지하였다.
④ 2017년의 명목 이자율과 실질 이자율은 같다.
⑤ 2018년에는 은행에 예금하는 것보다 현금 보유가 유리하였다.

133. 정답 ③

[해설]

③ 명목 이자율과 물가 상승률 모두 양(+)의 값을 가지며, 명목 이자율이 물가 상승률보다 높으므로 실질 이자율도 양(+)의 값을 가진다.

[오답 피하기]

① 물가 상승률이 지속적으로 양(+)의 값이므로 물가는 지속적으로 상승했다.
② 실질 이자율은 2%를 유지하다가 2018년에 1%로 하락하였다.
④ 2017년의 명목 이자율은 3%, 물가 상승률은 1%이므로 실질 이자율은 2%이다.
⑤ 2018년에는 명목 이자율이 양(+)의 값이므로 은행에 예금하면 2%의 이자가 발생한다. 따라서 현금 보유보다는 은행 예금이 유리하다

134. 그림은 A국의 명목 이자율과 물가 상승률의 추이를 나타낸 것이다. 이에 대한 설명으로 옳은 것은? (2019. 10월 학력평가)

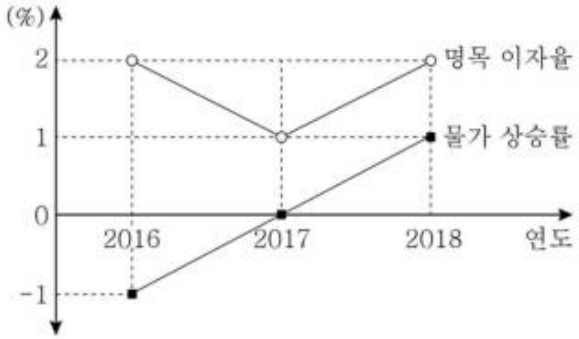

① 2016년에는 예금보다 현금 보유가 유리하다.
② 2017년에는 전년보다 예금에 대한 유인이 크다.
③ 물가 수준은 2017년이 2016년보다 높다.
④ 실질 이자율은 2016년이 2018년보다 높다.

134. 정답 ④

[해설]

④ 2016년과 2018년의 명목 이자율은 2%로 동일하나 물가 상승률은 2016년이 2018년보다 낮으므로, 실질 이자율은 2016년이 2018년보다 높다.

[오답 피하기]

① 2016년에는 실질 이자율이 3%이므로 현금보다 예금 보유가 유리하다.
② 2016년의 실질 이자율은 3%이고, 2017년의 실질 이자율은 1%이므로 2017년에는 전년보다 예금에 대한 유인이 작다.
③ 2017년의 물가 상승률이 0%이므로 2016년과 2017년의 물가 수준은 동일하다.

135. 그림은 어느 가계의 1, 2월 소득을 모두 정리한 것이다. 1월 대비 2월의 소득 변화에 대한 옳은 설명을 <보기>에서 고른 것은? (2019. 4월 학력평가)

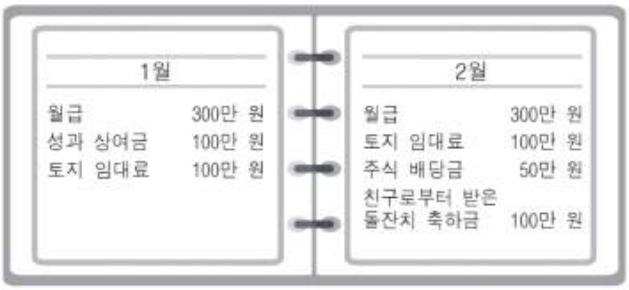

< 기>

ㄱ. 근로 소득은 감소하였다.
ㄴ. 재산 소득은 증가하였다.
ㄷ. 경상 소득은 증가하였다.
ㄹ. 이전 소득이 발생하였다.

① ㄱ, ㄴ ② ㄱ, ㄷ
③ ㄴ, ㄷ ④ ㄴ, ㄹ

135. 정답 ①

[해설]

ㄱ. ㄴ. 월급, 성과 상여금은 근로 소득에 해당하고, 토지 임대료, 주식 배당금은 재산 소득에 해당한다. 친구로부터 받은 돌잔치 축하금은 비경상 소득에 해당한다.

[오답 피하기]

ㄷ. 경상 소득은 감소하였다

ㄹ. 이전 소득은 발생하지 않았다.

136. 다음은 갑의 가계수입과 지출을 나타낸다. 이에 대한 분석으로 옳은 것은? (2020. 4월 학력평가)

수입		지출	
항목	금액	항목	금액
월급	270만 원	통신비	15만 원
주식 배당금	30만 원	교육비	100만 원
자녀 돌 축하금	40만 원	식료품비	150만 원
		세금	25만 원
		사회 보험료	50만 원

① 이전 소득은 40만 원이다.
② 비소비 지출은 90만 원이다.
③ 근로 소득보다 소비 지출이 많다.
④ 경상 소득 중 재산 소득의 비율은 10%이다.

136. 정답 ④

[해설]

갑의 경상 소득은 근로 소득인 월급 270만 원, 재산 소득인 주식 배당금 30만 원을 합한 30만 원이며, 자녀 돌 축하금 40만 원은 비경상 소득이다.

④ 경상소득 300만원 중 30만원이 재산 소득이므로 이는 경상 소득 중 재산 소득의 비율은 10%이다.

[오답 피하기]

① 이전 소득은 발생하지 않았다.

② 비소비 지출은 세금과 사회 보험료를 합한 75만 원이다.

③ 소비 지출은 통신비, 교육비, 식료품비를 합한 265만 원으로 근로 소득보다 적다.

137. 그림은 교사의 수업 장면이다. ㉠~㉤에 대한 설명으로 옳지 않은 것은? (2020. 6월 수능 모의평가)

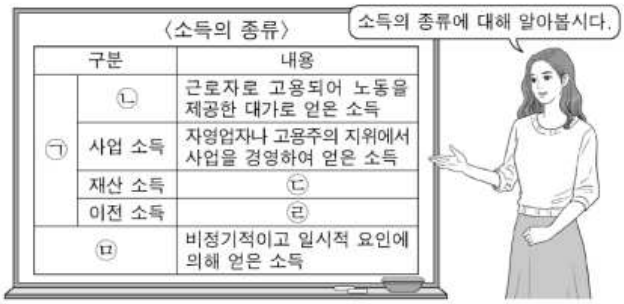

① ㉠은 비교적 정기적이고 예측 가능한 형태로 발생하는 소득이다.
② ㉡에는 '경상 소득'이 들어갈 수 있다.
③ ㉢에는 '금융 자산, 토지, 건물 등과 같은 재산을 이용하여 얻은 소득'이 들어갈 수 있다.
④ ㉣에는 '생산에 직접 참여하지 않고 무상으로 얻은 소득'이 들어갈 수 있다.
⑤ ㉤의 예로 퇴직금을 들 수 있다.

137. 정답 ②

[해설]

소득은 경상 소득과 비경상 소득으로 나뉘며, 경상 소득에는 근로 소득, 사업 소득, 재산 소득, 이전 소득 등이 있다. 따라서 ㉠은 경상 소득, ㉡은 근로 소득, ㉤은 비경상 소득이다.

② ㉡은 근로 소득이다.

[오답 피하기]

① ㉠은 경상 소득으로 정기적으로 발생하는 소득이다.
③ 재산 소득이란 예금, 주식 등의 금융 자산이나 토지, 건물 등의 실물 자산을 운용하여 얻은 소득을 말한다.
④ 이전 소득이란 생산 활동에 참여하지 않고 무상으로 얻은 소득을 말한다.
⑤ ㉤은 비경상 소득으로 경조금, 퇴직금 등이 이에 해당한다.

138. 그림은 금융 상품 A~C를 일반적인 특징에 따라 구분한 것이다. 이에 대한 설명으로 옳은 것은? (단, A~C는 각각 정기 예금, 주식, 채권 중 하나이다.) (2019. 4월 학력평가)

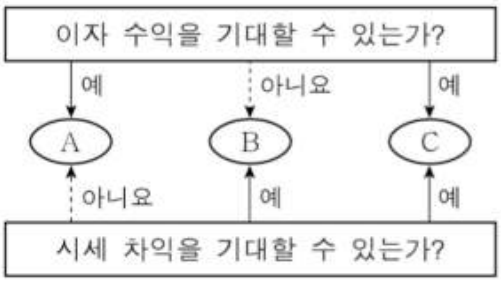

① A는 요구불 예금에 포함된다.
② B보다 A가 안전성이 높은 금융 상품이다.
③ A와 달리 B는 만기가 있는 금융 상품이다.
④ B와 달리 C를 보유하는 경우 주주로서의 지위를 가진다.

138. 정답 ②

[해설]

A는 정기 예금, B는 주식, C는 채권이다.

② 주식보다는 예금이 안전성이 높다.

[오답 피하기]

① 정기 예금은 저축성 예금에 포함된다.
③ 주식과 달리 정기 예금은 만기가 있는 금융 상품이다.
④ B를 보유하는 경우 주주로서의 지위를 가진다.

139. 그림은 금융 상품 A, B의 일반적인 특징을 연결한 것이다. 이에 대한 설명으로 옳은 것은? (단, A와 B는 각각 주식과 채권 중 하나이다.) (2019. 6월 수능 모의평가)

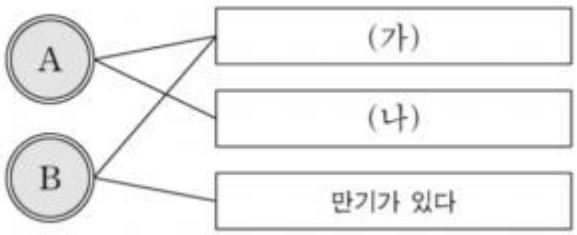

① (가)에는 '배당 수익을 기대할 수 있다.'가 들어갈 수 있다.
② (가)에는 '시세 차익을 기대할 수 있다.'가 들어갈 수 있다.
③ (나)에는 '원금을 보장 받는다.'가 들어갈 수 있다.
④ B는 일반적으로 예금자 보호 제도의 적용 대상이다.
⑤ A는 일반적으로 B보다 안전성이 높다.

140. 다음 사례에 대한 분석으로 옳은 것은? (단, A, B는 각각 예금과 주식 중 하나이고, 다른 비용은 발생하지 않는다.) (2019. 7월 학력평가)

◦ 갑은 1,000만 원으로 금융 상품 A를 매수하여 1년 동안 보유하다가 50만 원의 배당금을 받은 직후 1,200만 원에 모두 매도하였다. 갑이 A를 보유하는 동안 물가가 10% 상승하였다.
◦ 을은 1,000만 원을 연리 5%의 금융 상품 B에 가입하여 1년 동안 보유하다가 만기가 되어 원금과 이자를 합해 1,050만 원을 받았다. 을이 B를 보유하는 동안 물가가 10% 상승하였다.

① 을이 보유한 자산의 실질 가치는 하락하였다.
② 을은 갑보다 많은 수익을 얻었다.
③ 갑과 을 모두 시세 차익을 얻었다.
④ 갑과 을 모두 간접 금융 시장에서 거래하였다.
⑤ A는 예금, B는 주식이다.

139. 정답 ②

[해설]

만기가 있는 B는 채권, 만기가 없는 A는 주식이다. ② 주식과 채권 모두 시세 차익을 기대할 수 있다.

[오답 피하기]

① 배당 수익은 주식에만 해당한다.
③ 주식은 안전성이 낮은 상품으로 원금이 보장되지 않는다.
④ 예금자 보호 제도는 은행 예금을 대상으로 하며 주식, 채권은 대상이 아니다.
⑤ 주식, 채권 모두 안전성이 낮은 상품이지만 일반적으로 주식이 더 낮은 편이다.

140. 정답 ①

[해설]

① 을의 명목 이자율은 5%이고, 물가 상승률은 10%이므로 실질 이자율은 −5%이다. 따라서 을이 보유한 자산의 실질 가치는 하락하였다.

[오답 피하기]

② 갑은 250만 원, 을은 50만 원의 수익을 얻었다.
③ 갑만 200만 원의 시세 차익을 얻었다.
④ 갑은 직접 금융 시장, 을은 간접 금융 시장에서 거래하였다.
⑤ A는 주식, B는 예금이다.

141. 그림은 금융 상품 A, B에 대한 형성 평가 활동지이다. (가)~(다)에 들어갈 내용을 옳은 것은? (단, A와 B는 각각 주식과 채권 중 하나이다.) (2020. 6월 수능 모의평가)

형성 평가 활동

성명 : ○○○

⊙ 금융 상품 A, B의 일반적인 특징을 쓰시오.

A: 정부, 공공 기관, 기업 등이 투자자로부터 비교적 거액의 자금을 일시에 조달받기 위해 발행하는 차용증서

B: 기업이 사업 자금 조달을 위해 투자자로부터 자금을 받고 그 대가로 기업 소유권의 일부를 주는 증서

A의 특징	B의 특징
(가)	(나)
A와 B의 공통적인 특징	
(다)	

① (가): 배당금을 기대할 수 있다.
② (가): 예금자 보호 제도의 대상이다.
③ (나): 만기가 있다.
④ (나): 이자 수익을 기대할 수 있다.
⑤ (다): 시세 차익을 기대할 수 있다.

141. 정답 ⑤

[해설]

A는 채권, B는 주식이다.

⑤ 채권과 주식 모두 시세 차익을 기대할 수 있다

[오답 피하기]

① 배당금을 기대할 수 있는 금융 상품은 주식이다.
② 예금자 보호 제도의 대상은 예금이다.
③ 채권과 달리 주식에에는 만기가 없다.
④ 이자 수익을 기대할 수 있는 금융 상품은 채권이다.

142. 표는 갑이 보유한 금융 자산의 상품별 현황을 나타낸다. 이에 대한 설명으로 옳은 것은? (2020. 9월 수능 모의평가)

구분	금액(만 원)
정기 예금	500
정기 적금	300
채권	200
주식	100
펀드	500

① 저축성 예금의 총액은 300만 원이다.
② 요구불 예금의 총액은 500만 원이다.
③ 시세 차익을 기대할 수 있는 상품의 총액은 100만 원이다.
④ 예금자 보호 제도의 적용을 받는 상품의 총액은 500만 원이다.
⑤ 금융 기관이 자금을 모집하여 운용하고 그 결과에 따라 수익을 돌려주는 상품의 총액은 500만 원이다.

142. 정답 ⑤

[해설]

⑤ 제시된 자료에서 금융 기관이 자금을 모집하여 운용하고 그 결과에 따라 수익을 돌려주는 상품에 해당하는 것은 펀드이다.

[오답 피하기]

① 정기 예금과 정기 적금은 저축성 예금에 해당한다. 그러므로 저축성 예금의 총액은 800만 원이다.
② 제시된 자료에서 요구불 예금은 나타나 있지 않다.
③ 채권, 주식, 펀드는 시세 차익을 기대할 수 있는 상품에 해당한다. 그러므로 시세차익을 기대할 수 있는 상품의 총액은 800만 원이다.
④ 정기 예금과 정기 적금은 예금자 보호 제도의 적용을 받는 상품에 해당한다. 그러므로 예금자 보호 제도의 적용을 받는 상품의 총액은 800만 원이다.

143. (가)~(라)에 대한 진술로 옳은 것은?

가) 이자율이 상승하였다. (나) 정부가 소득세율을 인하하였다. (다) 무역 상대국의 국민 소득이 증가하였다. (라) 전반적인 생산 요소의 가격이 상승하였다.

① (가)로 인해 총수요가 증가한다.
② (나)로 인해 가계의 소비 지출이 감소한다.
③ (나), (라)가 동시에 발생할 경우 물가가 상승한다.
④ (다), (라)가 동시에 발생할 경우 실질 GDP가 감소한다.
⑤ (나), (다), (라)는 총수요의 변동 요인이다.

144. (가), (나)에 대한 설명으로 옳은 것은?

(가) 베트남전 참전으로 1965년부터 1967년 사이 미국 국방비 지출은 40% 증가하였고, 1968년 또다시 15% 증가하였다. (나) 2008년 금융 위기로 인한 매우 낮은 기대 수익률 때문에 미국의 투자 지출은 대폭 줄어들었다.

① (가)는 디플레이션을 유발한다.
② (가)로 인한 물가 변화에 대응하기 위해서는 확대 재정 정책이 필요하다.
③ (나)는 구조적 실업을 유발한다.
④ (나)로 인해 명목 GDP는 감소하게 된다.
⑤ (가)는 총수요, (나)는 총공급의 변동을 초래한다

143. 정답 ③

[해설]

(가)~(다)는 총수요의 변동 요인, (라)는 총공급의 변동 요인이다.

③ (나)로 인해 가계의 소비 지출이 증가하여 총수요가 증가하고, (라)로 인해 생산 비용이 증가하여 총공급이 감소한다. 두 요인 모두 물가 상승 요인이므로 물가는 상승한다.

[오답 피하기]

① 이자율이 상승하면 가계와 기업이 소비 지출과 투자 지출을 줄이게 되므로 총수요가 감소한다.
② 정부가 소득세율을 인하하면 가계의 처분 가능 소득이 증가하여 소비 지출이 증가한다.
④ (다)로 인해 순수출이 늘어나 총수요가 증가하므로 (다)는 실질 GDP 증가 요인이다. (라)로 인해 총공급이 감소하므로 (라)는 실질 GDP 감소 요인이다. 실질 GDP 증가 요인과 감소 요인이 모두 작용하였으므로 실질 GDP는 총수요의 증가폭과 총공급의 감소폭에 따라 증감 여부가 달라진다.
⑤ (라)는 총공급의 감소 요인이다.

144. 정답 ④

[해설]

가)에서 베트남전 참전으로 국방비 지출이 크게 증가하면 총수요가 증가하게 된다. (나)에서 투자 지출이 줄어들게 되면 총수요가 감소한다.

④ (나)의 총수요 감소로 인해 실질 GDP는 감소하고, 물가도 하락하기 때문에 명목 GDP도 감소한다.

[오답 피하기]

① (가)의 총수요 증가는 인플레이션을 유발한다.
② (가)의 총수요 증가로 인해 물가가 상승하므로 이에 대응하기 위해서는 긴축 재정 정책이 필요하다.
③ (나)의 총수요 감소는 경기 침체와 함께 경기적 실업을 유발한다. 구조적 실업은 산업화나 정보화 같은 산업 구조 변동에 의해 발생하는 실업이다.
⑤ (가), (나) 모두 총수요의 변동을 초래한다.

145. 그림은 금융 정책의 효과를 나타낸 것이다. (가), (나)에 들어갈 내용으로 옳은 것은?

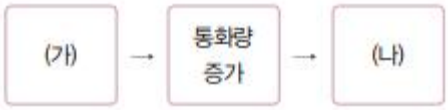

	(가)	(나)
①	국·공채 매입	이자율 하락
②	국·공채 매각	이자율 상승
③	재할인율 인상	이자율 하락
④	재할인율 인하	이자율 상승

145. 정답 ①

[해설]

중앙은행의 금융 정책 수단으로는 공개 시장 조작 정책, 재할인율 정책, 지급 준비율 정책이 있다. 통화량을 증가시키기 위해서 중앙은행은 국·공채를 매입하고, 재할인율 및 지급 준비율을 인하한다.

① 중앙은행이 국·공채를 매입하면 시중에 자금이 풀려 통화량이 증가한다. 통화량이 증가하면 이자율이 하락하게 된다.

[오답 피하기]

② 중앙은행이 국·공채를 매각하면 시중의 자금이 중앙은행으로 환수되어 통화량이 감소하고 이자율은 상승하게 된다.

③ 중앙은행이 재할인율을 인상하면 대출이 억제되어 통화량이 감소하고 이자율은 상승하게 된다.

④ 중앙은행이 재할인율을 인하하면 대출이 증가하여 통화량이 증가하고 이자율은 하락하게 된다.

146. 다음과 같은 재정 정책에서 공통적으로 기대되는 효과로 가장 적절한 것은?

- 사치품에 높은 세율의 개별 소비세를 부과한다.
- 소득세·상속세 등의 직접세에 누진세를 적용한다.
- 빈부 격차 해소를 위한 사회 보장비 지출을 확대한다.

① 고용 촉진
② 물가 안정
③ 경제 성장
④ 소득 재분배

146. 정답 ④

[해설]

재정 정책은 정부가 정부 지출이나 조세의 변동을 통해 경기를 조절하는 정책이다. 주로 경기 안정을 위해 사용되지만 소득 재분배, 효율적 자원 배분 등의 기능도 수행한다.

④ 높은 세율의 개별 소비세가 부과되는 사치품은 고소득층이 주로 소비하고, 소득세·상속세에 누진세를 적용하는 것은 고소득층이나 재산이 많은 계층으로부터 더 많은 세금을 징수하기 위한 것이다. 빈부 격차를 해소하기 위한 사회 보장비는 주로 저소득 계층에게 그 혜택이 돌아가므로 세 가지 재정 정책의 공통적인 효과는 소득 재분배이다.

[오답 피하기]

① 고용 촉진은 경기 침체 시 세율 인하, 정부 지출 확대 등의 확대 재정 정책을 통해 기대할 수 있는 효과이다.

② 물가 안정은 경기 과열 시 세율 인상, 정부 지출 축소 등의 긴축 재정 정책을 통해 기대할 수 있는 효과이다.

③ 경제 성장은 조세 감면으로 기업의 투자 촉진, 사회 간접 자본에의 투자 증대 등을 통해 기대할 수 있는 효과이다.

147. A~C의 금융 정책 수단에 대한 옳은 설명을 <보기>에서 고른 것은? (단, A~C는 각각 재할인율, 공개 시장 조작, 지급 준비율 중의 하나이다.)

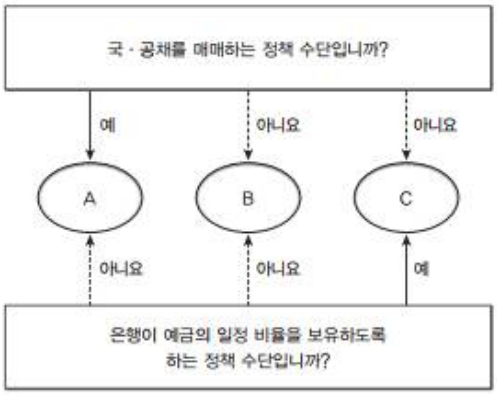

<보 기>

ㄱ. A에서 국·공채를 매각하게 되면 통화량이 감소한다.

ㄴ. C가 인하되면 은행의 대출 여력이 높아진다.

ㄷ. C는 중앙은행이 은행에 대출을 해 줄 때 적용하는 금리이다.

ㄹ. B, C의 인상은 세율 인하와 함께 사용될 때 효과가 크다.

① ㄱ, ㄴ　　② ㄱ, ㄷ
③ ㄴ, ㄷ　　④ ㄴ, ㄹ

147. 정답 ①

[해설]

A는 국·공채의 매매로 자금의 공급을 조절하는 공개 시장 조작이다. B는 재할인율로, 재할인율의 변동을 통해 통화량과 이자율이 조절된다. C는 은행이 예금자의 인출 요구에 대비하여 예금액의 일정 부분을 의무적으로 보유하도록 하는 지급 준비율이다.

ㄱ. A의 공개 시장 조작에서 국·공채를 매각하면 시중의 자금이 중앙은행으로 흡수되어 통화량이 감소한다.

ㄴ. C의 지급 준비율이 인하되면 그 인하된 비율만큼 은행은 더 대출을 할 수 있다.

[오답 피하기]

ㄷ. 중앙은행이 은행에 대출을 해줄 때 적용하는 금리는 지급 준비율이 아니라 재할인율이다.

ㄹ. 재할인율과 지급 준비율의 인상은 긴축 금융 정책으로, 세율 인상과 같은 긴축 재정 정책과 함께 사용할 때 효과가 크다.

148. 표는 갑국과 을국이 X재와 Y재를 각각 1단위씩 생산하는 데 소요되는 노동 시간을 나타낸 것이다. 이에 대한 분석으로 옳은 것은? (단, X재와 Y재의 생산에는 노동만 필요하다.)

(단위:노동 시간)

구분	X재	Y재
갑국	5	10
을국	2	8

① 갑국은 X재와 Y재의 생산에 모두 절대 우위가 있다.

② 을국이 X재 1단위를 생산하기 위한 기회비용은 Y재 4단위이다.

③ 갑국은 X재의 생산에, 을국은 Y재의 생산에 비교 우위가 있다.

④ 을국이 X재 1단위를 갑국의 Y재 1/3단위와 교환할 경우 양국 모두 이익을 얻을 수 있다.

148. 정답 ④

[해설]

제시된 표는 갑국과 을국이 X재와 Y재를 각각 1단위씩 생산하는 데 소요되는 노동 시간을 나타낸 것이므로 수치가 작을수록 더 효율적으로 생산하는 것이다.

④ 을국의 경우 X재 1단위의 기회비용이 Y재 1/4단위이므로 X재 1단위를 주면 Y재를 1/4단위보다 많이 받아야 한다. 갑국의 경우 X재 1단위의 기회비용이 Y재 1/2단위이므로 X재 1단위를 받기 위해서 Y재를 1/2단위보다 적게 주려고 한다. 따라서 X재 1단위와 Y재 1/3단위를 교환하면 양국 모두 이익을 얻을 수 있다.

[오답 피하기]

① 을국이 X재와 Y재 모두를 더 적은 노동 시간으로 생산할 수 있으므로 두 재화의 생산에 절대 우위가 있다.

② 을국은 X재 1단위를 생산하는 노동 시간으로 Y재 1/4단위를 생산할 수 있으므로 X재 1단위의 기회비용은 Y재 1/4단위이다.

③ X재 1단위 생산의 기회비용은 갑국의 경우 Y재 1/2단위, 을국의 경우 Y재 1/4단위이다. Y재 1단위 생산의 기회비용은 갑국의 경우 X재 2단위, 을국의 경우 X재 4단위이다. 비교 우위는 더 작은 기회비용으로 재화를 생산하는 국가에 있으므로 갑국은 Y재 생산에, 을국은 X재 생산에 비교 우위가 있다.

149. 다음 자료에 대한 분석으로 옳은 것은?

그림은 갑국의 X재 시장을 나타낸 것이다. X재의 국제 가격은 P_1이고, 갑국의 X재 수입은 국제 가격에 아무런 영향을 미치지 않는다. 현재 자유 무역을 하고 있는 갑국 정부는 X재에 대해 T만큼 관세를 부과하는 방안을 검토하고 있다.

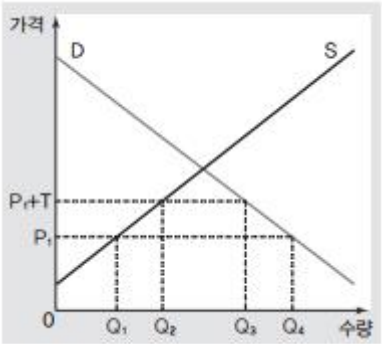

① 자유 무역 상황에서 X재 수입량은 Q_4이다.
② 관세를 부과할 경우 관세 수입은 $T \times Q_3$이다.
③ 관세를 부과할 경우 국내 생산자 잉여는 감소한다.
④ 관세를 부과하면 국내 소비량은 감소하고 국내 생산량은 증가한다.
⑤ 교역을 하지 않는 경우보다 자유 무역 후 X재의 국내 생산량이 더 많다.

149. 정답 ④

[해설]

X재의 국제 가격이 P1이므로 자유 무역을 할 경우 국내 가격도 P_1으로 하락하게 된다. P_1에서는 수요량이 국내 공급량보다 많아 Q_1Q_4만큼 X재를 수입하게 된다.

④ 정부가 관세를 부과하면 가격이 그만큼 상승하여 국내 소비량은 감소하고 국내 생산량은 증가한다.

[오답 피하기]

① 자유 무역 상황에서 가격은 P1이 되므로 국내 공급량은 Q_1이고, 국내 수요량은 Q_4이다. 따라서 수입량은 Q_1Q_4이다.
② T만큼 관세를 부과할 경우 수입량은 Q_2Q_3이므로 관세 수입은 $T \times Q_2Q_3$이다.
③ 관세를 부과하게 되면 가격이 상승하고 국내 생산량도 많아져 국내 생산자 잉여는 증가한다.
⑤ 교역을 하지 않는 경우 X재의 국내 생산량은 시장 균형점에서의 생산량이고, 자유 무역을 하는 현재 X재의 국내 생산량은 Q1이므로 교역을 하지 않는 경우의 국내 생산량이 더 많다.

150. 다음과 같은 국제 거래가 원/달러 환율에 미치는 영향에 대한 옳은 추론을 <보기>에서 고른 것은?

(가) 외국 기업이 1억 달러를 들여 국내에 공장을 건설했다.
(나) 한국인들이 해외여행 경비로 500만 달러를 지출했다.
(다) 외국인들이 국내에 취업하여 받은 임금 2,000만 달러를 본국에 송금했다.
(라) 국내 기업이 외국 금융 기관에서 빌린 차입금의 이자 100만 달러를 지급했다.

<보 기>

ㄱ. (가)-환율 상승
ㄴ. (나)-환율 상승
ㄷ. (다)-환율 하락
ㄹ. (라)-환율 상승

① ㄱ, ㄴ　　② ㄱ, ㄷ
③ ㄴ, ㄷ　　④ ㄴ, ㄹ

150. 정답 ④

[해설]

원/달러 환율은 외환 시장에서 달러화의 수요와 공급에 의해 결정된다. 달러화의 수요는 달러화를 해외로 지급할 때, 달러화의 공급은 달러화를 해외로부터 수취할 때 발생한다.

ㄴ. 해외여행 경비 500만 달러를 외환 시장에서 구입해야 하므로 외화의 수요가 증가하여 환율은 상승한다.
ㄹ. 해외 차입금의 이자를 지급하기 위해 외환 시장에서 달러화를 구입해야 하므로 외화의 수요가 증가하여 환율은 상승한다.

[오답 피하기]

ㄱ. 1억 달러의 외화가 국내로 유입되었으므로 외환 시장에서 외화의 공급이 증가하여 환율은 하락한다.
ㄷ. 외국인들이 국내 취업으로 받은 임금을 본국에 송금하기 위해 달러화로 교환해야 하므로 외화의 수요가 증가하여 환율은 상승한다.

151. 그림은 외환 시장에서 나타난 균형점의 이동(e0 → e1)을 나타낸 것이다. 이러한 이동의 요인으로 적절한 것은?

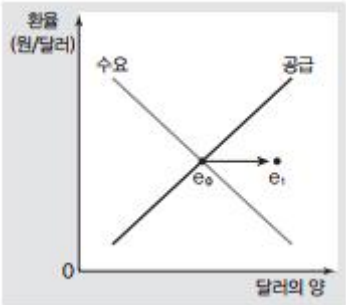

	수요 측 요인	공급 측 요인
①	수입 증가	자본 유입 증가
②	수출 증가	자본 유출 감소
③	자본 유출 증가	수출 감소
④	자본 유입 감소	수입 증가

151. 정답 ①

[해설]

외환 시장에서 환율과 외화 거래량은 외화의 수요와 공급에 의해 결정된다. 외환 시장의 균형점이 e0에서 e1으로 이동한 것은 외화의 수요와 공급이 모두 증가했기 때문이다.

① 외환 시장에서 외화의 국내 유입은 외화의 공급으로 나타나고, 외화의 해외 유출은 외화의 수요로 나타난다. 수입 증가는 외화의 수요 증가, 자본 유입 증가는 외화의 공급 증가로 이어진다.

[오답 피하기]

② 수출 증가는 외화의 공급 증가, 자본 유출 감소는 외화의 수요 감소로 이어진다.

③ 자본 유출 증가는 외화의 수요 증가, 수출 감소는 외화의 공급 감소로 이어진다.

④ 자본 유입 감소는 외화의 공급 감소, 수입 증가는 외화의 수요 증가로 이어진다.

152. 다음의 상황에 대한 옳은 분석 및 추론을 <보기>에서 고른 것은?

A: 원/달러 환율 추세가 지속된다고 해요.
B: 미국에 유학 중인 우리아이의 학비를 보내야하는데 걱정이군

<보 기>

ㄱ. 원/달러 환율은 낮아지는 추세이다.
ㄴ. 한국산 수출 상품의 달러화 표시 가격은 낮아질 것이다.
ㄷ. 미국산 부품을 사용하는 한국 기업의 생산비가 늘어날 것이다.
ㄹ. 미국 현지에 공장을 설립하려는 한국 기업의 부담이 줄어들 것이다.

① ㄱ, ㄴ ② ㄱ, ㄷ
③ ㄴ, ㄷ ④ ㄴ, ㄹ

152. 정답 ③

[해설]

원/달러 환율이 오를 경우 미국에 유학 중인 자녀에게 보낼 학비의 원화 환전액은 증가하게 된다. 따라서 신문 기사에 나타난 내용은 원/달러 환율의 상승 추세임을 알 수 있다.

ㄴ. 원/달러 환율이 상승하면 한국산 수출 상품의 원화 표시 가격은 변하지 않지만 달러화 표시 가격은 하락하게 된다.

ㄷ. 원/달러 환율이 상승하면 미국산 부품의 수입 가격, 즉 미국산 부품의 원화 표시 가격이 올라 한국 기업의 생산비가 증가한다.

[오답 피하기]

ㄱ. 원/달러 환율은 높아지는 추세이다.

ㄹ. 원/달러 환율이 상승하면 미국에서 공장을 설립하기 위해 이전보다 더 많은 양의 원화가 필요해진다. 따라서 미국에 공장을 설립하려는 한국 기업이 조달해야 할 투자 금액은 늘어나게 된다.

153. 다음 자료를 바탕으로 내년도에 나타날 환율 변동의 효과에 대한 옳은 추론을 <보기>에서 고른 것은? [삭제]

<보 기>

ㄱ. 한국 시장에서 일본 제품의 가격 경쟁력은 높아질 것이다.

ㄴ. 한국산 원재료를 사용하는 일본 기업의 생산비는 감소할 것이다.

ㄷ. 한국 시장에서 미국 제품의 가격 경쟁력은 일본 제품보다 높아질 것이다.

ㄹ. 미국산 부품을 사용하여 일본에 수출하는 한국 기업의 이익은 감소할 것이다

① ㄱ, ㄴ ② ㄱ, ㄷ
③ ㄴ, ㄷ ④ ㄴ, ㄹ

153 정답 ③

[해설]

내년도에는 원/달러 환율이 하락할 것으로 예상되며, 원/엔 환율은 상승할 것으로 예상된다. 따라서 원화 대비 달러화 가치는 상대적으로 낮아지며, 원화 대비 엔화 가치는 상대적으로 높아질 것으로 예상된다.

ㄴ. 원/엔 환율이 높아질 것이므로 한국산 원재료의 수입 가격은 하락하게 된다. 결과적으로 일본 기업의 생산비는 감소하게 된다.

ㄷ. 원/달러 환율이 낮아질 것이므로 한국 시장에서 미국 제품의 (원화 표시) 수입 가격은 하락하게 된다. 반면, 원/엔 환율은 높아질 것이므로 한국 시장에서 일본 제품의 (원화 표시) 수입 가격은 상승하게 된다. 따라서 한국 시장에서 미국 제품의 가격 경쟁력은 일본 제품보다 높아지게 된다.

[오답 피하기]

ㄱ. 원/엔 환율이 높아질 것이므로 한국 시장에서 일본 제품의 수입 가격은 상승하게 된다. 이는 일본 제품의 가격 경쟁력 하락 요인으로 작용한다.

ㄹ. 원/달러 환율이 낮아질 것이므로 미국산 부품의 수입 가격은 하락하게 된다. 그리고 원/엔 환율이 높아질 것이므로 한국 기업의 대일본 수출은 증가하게 된다. 이를 종합할 때 한국 기업의 이익이 감소할 것이라고 보기 어렵다.

154. 그림은 A국 화폐 대비 B국과 C국 화폐 가치의 변동률을 나타낸 것이다. 이에 대한 옳은 분석을 <보기>에서 고른 것은? (단, 무역은 A국~C국 간에만 발생한다.)

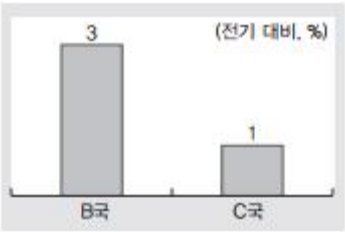

<보 기>

ㄱ. A국 시장에서 B국 상품의 가격 경쟁력은 하락했다.

ㄴ. C국 시장에서 A국 상품의 가격 경쟁력은 하락했다.

ㄷ. B국에서 원자재를 조달하는 C국 기업의 생산비는 증가했다.

ㄹ. A국 화폐 대비 B국 화폐의 환율은 상승했다

① ㄱ, ㄴ ② ㄱ, ㄷ
③ ㄴ, ㄷ ④ ㄴ, ㄹ

154. 정답 ②

[해설]

A국 화폐 대비 B국 화폐와 C국 화폐 가치는 상승하였다. B국 화폐 가치가 C국 화폐 가치보다 많이 올랐으므로 B국 화폐 대비 C국 화폐 가치는 하락했다고 할 수 있다. 따라서 B국 화폐, C국 화폐 대비 A국 화폐의 환율은 상승하였고, B국 화폐 대비 C국 화폐의 환율도 상승하였다.

ㄱ. A국 화폐와 C국 화폐 대비 B국 화폐 가치는 상승했다. 따라서 B국 상품의 가격은 A국과 C국 상품보다 상대적으로 비싸져 A국 시장에서 B국 상품의 가격 경쟁력은 하락했다.

ㄷ. B국 화폐 대비 C국 화폐 가치가 하락했으므로(B국 화폐 대비 C국 화폐의 환율 상승) B국에서 원자재를 조달하는 C국 기업의 원자재 수입 가격이 상승하여 생산비가 증가했다.

[오답 피하기]

ㄴ. A국 화폐 가치는 B국과 C국의 화폐 가치에 비해 하락했다. 따라서 A국 상품의 가격은 B국과 C국 상품보다 상대적으로 싸져 C국 시장에서 A국 상품의 가격 경쟁력은 상승했다.

ㄹ. B국 화폐 대비 A국 화폐의 가치는 하락했으므로 A국 화폐 대비 B국 화폐의 환율은 하락했다.

155. (가)~(다)에 대한 옳은 설명을 <보기>에서 고른 것은? (단, 국제 수지는 우리나라를 기준으로 한다.)

(가) 일본인 관광객들이 서울에서 1,000만 달러를 지출했다.
(나) 우리 정부가 다른 국가로부터 차관 3,000만 달러를 도입하였다.
(다) 우리나라가 태풍 피해를 입은 타국에 구호금 5,000만 달러를 원조했다

<보 기>

ㄱ. (가)에서 1,000만 달러는 서비스 수지의 적자 요인이다.
ㄴ. (나)에서 3,000만 달러는 금융 계정에 기록된다.
ㄷ. (다)에서 5,000만 달러는 이전 소득 수지의 흑자 요인이다.
ㄹ. (가)와 (다)만으로 집계되는 경상 수지는 적자이다

① ㄱ, ㄴ　　② ㄱ, ㄷ
③ ㄴ, ㄷ　　④ ㄴ, ㄹ

155. 정답 ④

[해설]

ㄴ. 금융 계정에는 직접 투자, 증권 투자, 차관, 준비 자산 등이 기록된다. 따라서 차관 3,000만 달러는 금융 계정 항목의 외화 수취에 해당한다.
ㄹ. (가)에서는 서비스 수지 1,000만 달러 흑자이고, (다)에서는 구호금 5,000만 달러 적자이므로 이 두 가지만으로 집계되는 경상 수지는 4,000만 달러 적자이다.

[오답 피하기]

ㄱ. 관광 수입은 서비스 수지에 양(+)의 값으로 기록된다.
ㄷ. 다른 나라에 구호금을 원조한 것은 이전 소득 수지에 집계되며 외화 지급에 해당하므로 이전 소득 수지의 적자 요인이다

156. 그림의 (가), (나)에 대한 설명으로 옳은 것은?

〈우리나라 국제 수지의 구성〉

* 경상 수지+자본 · 금융 계정+오차 및 누락=0

① 해외 유학생에게 보내는 학비는 (가)에 음(−)의 값으로 표기된다.
② 우리나라 사람이 외국에서 일하고 받은 임금은 (가)에 양(+)의 값으로 표기된다.
③ 외국 기업이 우리나라에 투자한 대가로 배당금을 받아가면 (가)에 양(+)의 값으로 표기된다.
④ 외국산 자동차를 수입하고 치르는 대금은 (나)에 음(−)의 값으로 표기된다.
⑤ 특허권 사용료를 해외로 지급하게 되면 (나)에 음(−)의 값으로 표시된다.

156. 정답 ②

[해설]

② 우리나라 사람이 외국에서 일하고 받은 임금은 본원 소득 수지에 해당하며 외화의 수취이다.

[오답 피하기]

① 해외 유학생에게 보내는 학비는 외국의 교육 서비스에 대한 지급이므로 서비스 수지에 해당하며 외화의 지급이다.
③ 외국 기업이 우리나라에 투자한 대가로 배당금을 받아가는 것은 본원 소득 수지에 음(−)의 값으로 기록된다.
④ 외국산 자동차를 수입하고 치르는 대금은 상품 수지에 해당하며 외화의 지급이다.
⑤ 특허권 사용료를 해외로 지급하는 것은 서비스 수지에 음(−)의 값으로 표시된다.

157. (가)~(라)에 해당하는 적절한 사례를 <보기>에서 고른 것은? [2014 수능]

<국제 수지표>

수취 및 지급 / 계정	외화 수취	외화 지급
경상수지	(가)	(나)
자본·금융 계정	(다)	(라)

<보 기>

ㄱ. (가) - 갑 기업이 휴대 전화를 해외로 수출하였다.

ㄴ. (나) - 을이 해외 주식 시장에서 외국 A 기업 주식을 구입하였다.

ㄷ. (다) - 국내에 있는 병 자동차 공장을 외국 B 기업이 인수하였다.

ㄹ. (라) - 정 여행사가 단체 관광객의 숙박을 위해 해외 C 호텔을 이용하였다.

* 단, 갑~정은 국내 경제 주체이다

① ㄱ, ㄴ ② ㄱ, ㄷ
③ ㄴ, ㄷ ④ ㄴ, ㄹ

157. 정답 ②

[해설]

ㄱ. 기업이 휴대 전화를 해외로 수출하는 것은 재화를 수출하고 그 판매 대금인 외화를 수취하는 것이므로 (가)에 해당한다.

ㄷ. 국내에 있는 공장을 외국 기업이 인수하는 것은 금융 계정에 기록되며, 외화가 국내로 유입되는 것이므로 (다)에 해당한다.

[오답 피하기]

ㄴ. 우리나라 사람이 외국 주식을 구입하는 것은 증권 투자이다. 이는 금융 계정에 기록되고 해외로 외화가 유출되는 것이므로 (나)가 아닌 (라)에 해당한다.

ㄹ. 국내 여행사가 외국 호텔을 이용하는 것은 서비스 수지에 해당하고 해외로 외화가 유출되는 것이므로 (라)가 아닌 (나)에 해당한다.

158. 교사의 질문에 옳게 답변한 학생을 <보기>에서 고른 것은? [삭제하기]

교사 : A`~`C는 15세 이상 인구를 분류한 것입니다. 이에 대해 발표해 볼까요?

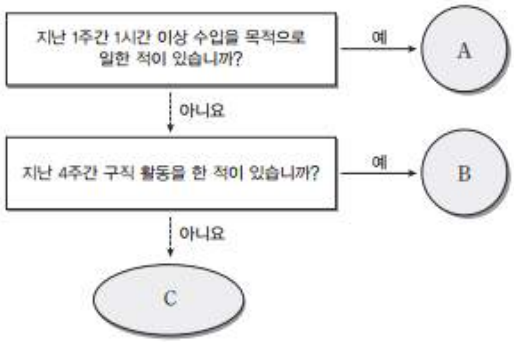

① 갑, 을 ② 갑, 병
③ 을, 병 ④ 을, 정

158. 정답 ②

[해설]

제시된 자료에서 A는 취업자, B는 실업자, C는 비경제 활동 인구이다.

갑. 구직 단념자는 비경제 활동 인구에 해당한다.

병. C에서 A로의 이동은 비경제 활동 인구에서 취업자로의 이동을 나타낸다. 전업주부는 비경제 활동 인구에 해당하고, 공무원은 취업자에 해당한다.

[오답 피하기]

을. 고용률은 15세 이상 인구에서 차지하는 취업자의 비중을 말한다. (A+B)에 대해 B가 차지하는 비중은 실업률이다.

정. 회사를 퇴직한 후 구직 활동을 하는 것은 취업자였던 개인이 실업자가 된 것이므로, A에서 B로의 이동으로 볼 수 있다.

159. 교사의 질문에 옳게 답변한 학생을 <보기>에서 고른 것은?

교사 : 그림과 같은 유형의 인플레이션에 대해 발표해 볼까요?

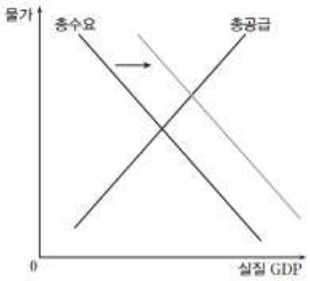

<보 기>

갑 : 수출의 감소가 요인이 될 수 있습니다.

을 : 스태그플레이션이 발생할 수 있습니다.

병 : 현금 자산 보유자보다 실물 자산 보유자가 유리해집니다.

정 : 이를 해결하는 방법으로 긴축 재정 정책을 들 수 있습니다

① 갑, 을 ② 갑, 병
③ 을, 병 ④ 병, 정

159. 정답 ④

[해설]

제시된 그림은 총수요 곡선이 우측 이동하여 발생한 수요견인 인플레이션을 나타내고 있다. 총수요를 구성하고 있는 민간 소비, 민간 투자, 정부 지출, 순수출 등이 증가하면 총수요는 증가한다.

병. 일반적으로 인플레이션이 발생하면 화폐 가치가 떨어져서 현금 자산 보유자보다 실물 자산 보유자가 유리해진다.

정. 긴축 재정 정책은 총수요 곡선의 좌측 이동 요인이다.

[오답 피하기]

갑. 수출 감소는 총수요 곡선의 좌측 이동 요인이다.

을. 스태그플레이션은 총공급의 감소로 인한 비용 인상 인플레이션 상황에서 나타날 수 있다.

160. 그림은 갑국의 실질 GDP와 명목 GDP의 추이를 나타낸 것이다. 이에 대한 옳은 분석을 <보기>에서 고른 것은? (단, 물가 수준은 GDP 디플레이터로 측정한다.)

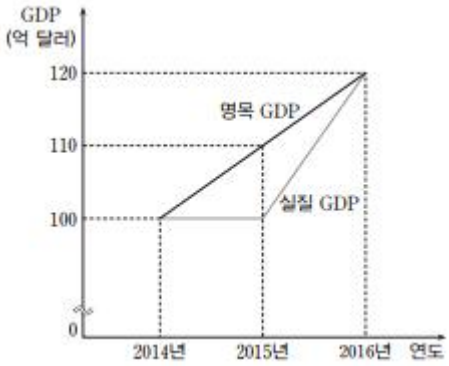

<보 기>

ㄱ. 물가는 지속적으로 상승하였다.

ㄴ. 2015년의 경제 성장률은 양(+)의 값을 가진다.

ㄷ. 2015년의 물가 지수는 전년 대비 10% 상승하였다.

ㄹ. 2014년과 2016년의 물가 지수는 동일하다.

① ㄱ, ㄴ ② ㄱ, ㄷ ③ ㄴ, ㄷ ④ ㄷ, ㄹ

160. 정답 ④

[해설]

GDP 디플레이터는 (명목 GDP/실질 GDP)×100으로 계산한다. 제시된 그림을 통해 2014년에서 2016년까지의 명목 GDP와 실질 GDP 그리고 GDP 디플레이터를 정리해 보면 다음과 같다.

구분	2014년	2015년	2016년
명목 GDP(억 달러)	100	110	120
실질 GDP(억 달러)	100	100	120
GDP 디플레이터	100	110	100

ㄷ. 2014년의 GDP 디플레이터는 100이고, 2015년의 GDP 디플레이터는 110이다. 따라서 물가 지수는 10% 상승하였다.

ㄹ. 2014년과 2016년의 GDP 디플레이터는 모두 100으로 같다. 따라서 물가 지수는 동일하다.

[오답 피하기]

ㄱ. 2015년의 전년 대비 물가는 상승하였지만, 2016년의 전년 대비 물가는 하락하였다.

ㄴ. 2014년과 2015년의 실질 GDP는 100억 달러이므로 경제 성장률은 0%이다.

161. 그림은 갑국의 경제 상황을 나타낸 것이다. 이에 대한 옳은 분석을 <보기>에서 고른 것은? (단, 물가 수준은 GDP 디플레이터로 측정한다.)

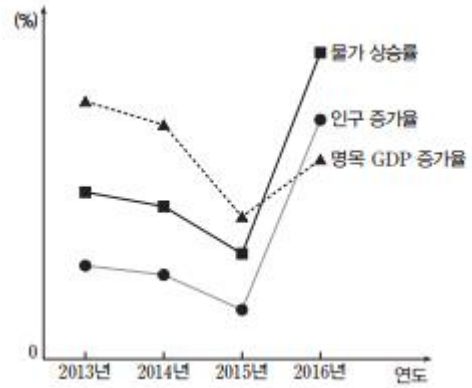

<보 기>

ㄱ. 2014년의 경제 성장률은 음(-)의 값을 가진다.
ㄴ. 2015년의 물가 수준은 전년보다 하락하였다.
ㄷ. 2016년의 실질 GDP는 전년보다 감소하였다.
ㄹ. 2016년의 1인당 명목 GDP는 2015년에 비해 작다.

① ㄱ, ㄴ ② ㄱ, ㄷ ③ ㄴ, ㄷ ④ ㄷ, ㄹ

161. 정답 ④

[해설]

제시된 그림은 갑국의 물가 상승률과 인구 증가율 그리고 명목 GDP 증가율을 보여 주고 있다. 명목 GDP 증가율이 물가 상승률보다 크면 실질 GDP는 증가하고, 명목 GDP 증가율이 물가 상승률보다 작으면 실질 GDP는 감소한다.

ㄷ. 2016년의 경우 명목 GDP 증가율이 물가 상승률보다 작다. 따라서 실질 GDP 증가율은 음(-)의 값을 가진다.

ㄹ. 2016년의 경우 명목 GDP 증가율이 인구 증가율보다 작다. 따라서 1인당 명목 GDP는 감소하였다.

[오답 피하기]

ㄱ. 2014년의 명목 GDP 증가율이 물가 상승률보다 크기 때문에 실질 GDP 증가율은 양(+)의 값을 가진다. 따라서 경제 성장률은 양(+)의 값을 가진다.

ㄴ. 물가 상승률은 2013년부터 2016년까지 양(+)의 값을 가지므로 물가는 지속적으로 상승하였다.

162. (가), (나)는 갑국의 경제 지표에 대한 자료이다. 이에 대한 옳은 분석을 <보기>에서 고른 것은? (단, 물가 수준은 GDP 디플레이터로 측정한다.)

(가)

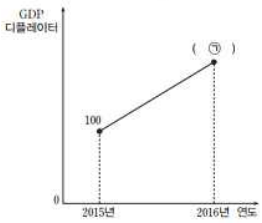

(나)

(단위 : 억 달러)

구분	2015년	2016년
실질 GDP	(㉡)	200
명목 GDP	200	220

<보 기>

ㄱ. ㉠은 120, ㉡은 200이다.
ㄴ. 2016년의 경제 성장률은 0%이다.
ㄷ. 2016년의 물가 상승률은 10%이다.
ㄹ. 2016년 국민 경제의 생산량 수준은 2015년보다 크다

① ㄱ, ㄴ ② ㄱ, ㄷ ③ ㄴ, ㄷ ④ ㄴ, ㄹ

162. 정답 ③

[해설]

GDP 디플레이터는 (명목 GDP/실질 GDP)×100으로 계산할 수 있다. 제시된 자료 (가)를 보면 2015년 GDP 디플레이터가 100이므로 (나)의 ㉡에 들어갈 수치는 200이다.

ㄴ. 2015년과 2016년의 실질 GDP가 각각 200억 달러로 동일하므로 경제 성장률은 0%이다.

ㄷ. 2016년의 GDP 디플레이터는 (220억 달러/200억 달러)×100 =110이다. 따라서 GDP 디플레이터의 값이 2015년 100에서 2016년 110으로 변화하였으므로 물가 상승률은 10%이다.

[오답 피하기]

ㄱ. ㉠은 110, ㉡은 200이다.

ㄹ. 국민 경제의 생산량 수준은 실질 GDP로 판단할 수 있다. 2015년과 2016년의 실질 GDP가 200억 달러로 동일하므로 국민 경제의 생산량 수준은 변함이 없다

163. 표에 대한 분석으로 옳은 것은? (단, 기준 연도는 2013년이고, 물가 수준은 GDP 디플레이터로 측정한다.)

(단위 : 전년 대비, %)

구분	2014년	2015년	2016년
명목 GDP 증가율	4	4	1
물가 상승률	2	1	-3

① 물가 수준은 2014년에 가장 높다.
② 2014년의 실질 GDP는 전년보다 크다.
③ 2016년의 명목 GDP는 2015년보다 작다.
④ GDP 디플레이터는 2015년보다 2016년이 크다.
⑤ 명목 GDP는 2014년에, 실질 GDP는 2016년에 가장 크다

163. 정답 ②

[해설]

명목 GDP 증가율이 물가 상승률보다 크면 실질 GDP 증가율은 양(+)의 값을 나타낸다. 반면, 명목 GDP 증가율이 물가 상승률보다 작으면 실질 GDP 증가율은 음(-)의 값을 나타낸다.

② 2014년부터 2016년까지 명목 GDP 증가율은 물가 상승률보다 크기 때문에 실질 GDP는 계속 증가하고 있다. 따라서 2013년의 실질 GDP보다 2014년의 실질 GDP가 더 크다고 할 수 있다.

[오답 피하기]

① 물가 수준은 2015년에 가장 높다.
③ 명목 GDP 증가율은 2016년이 2015년보다 작지만 양(+)의 값이므로 2016년의 명목 GDP가 2015년보다 크다.
④ 2016년의 물가 상승률이 -3%이므로 2016년의 전년 대비 물가는 하락하였다. 따라서 GDP 디플레이터는 2015년이 2016년보다 크다.
⑤ 명목 GDP와 실질 GDP 모두 2016년에 가장 크다.

164. 그림은 X재 및 Y재의 수요 곡선과 공급 곡선을 나타낸 것이다. 이에 대한 옳은 분석 및 추론을 <보기>에서 고른 것은? (단, 현재 X재와 Y재의 공급 곡선은 일치한 상태이며, 두 시장의 균형점은 모두 E로 동일하다.)

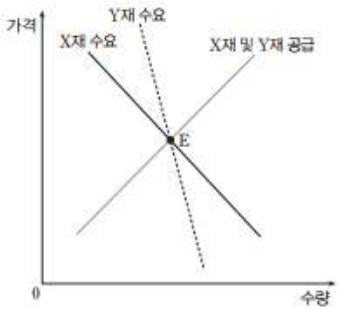

<보 기>

ㄱ. E에서 Y재는 X재보다 가격에 대해 수요량이 민감하게 변화한다.
ㄴ. X재와 Y재의 공급이 동일한 폭으로 증가할 경우 X재의 거래량 변동폭이 Y재보다 작다.
ㄷ. X재와 Y재의 공급이 동일한 폭으로 증가할 경우 X재의 판매 수입이 Y재보다 크다.
ㄹ. X재와 Y재의 공급이 동일한 폭으로 감소할 경우 X재의 가격 변동폭이 Y재보다 작다

① ㄱ, ㄴ ② ㄱ, ㄷ ③ ㄴ, ㄷ ④ ㄷ, ㄹ

164. 정답 ④

[해설]

X재와 Y재의 공급 곡선은 일치하지만 수요의 가격 탄력성은 X재가 Y재보다 크다.

ㄷ. X재가 Y재보다 수요의 가격 탄력성이 크므로 X재와 Y재의 공급 곡선이 일치한 상태에서 동일한 폭으로 공급이 증가할 경우 X재의 판매 수입이 Y재보다 크다.
ㄹ. X재와 Y재의 공급 곡선이 일치한 상태에서 동일한 폭으로 공급이 감소할 경우 가격 변동폭은 X재가 Y재보다 작다.

[오답 피하기]

ㄱ. 균형점 E에서 가격이 변동할 때 X재의 수요량 변화가 Y재보다 크므로 X재가 Y재보다 가격에 대해 수요량이 민감하게 변화한다.
ㄴ. X재와 Y재의 공급 곡선이 일치한 상태에서 동일한 폭으로 공급이 증가할 경우 거래량 변동폭은 X재가 Y재보다 크다

165. X~Z재에 대한 옳은 설명을 <보기>에서 고른 것은? (단, X~Z재는 수요 법칙을 따르며, 수요의 가격 탄력성이 0보다 크다.)

- X재는 가격 변동과 관계없이 판매 수입이 일정하다.
- Y재는 가격이 상승하면 판매 수입이 증가한다.
- Z재는 가격이 상승하면 판매 수입이 감소한다

<보 기>

ㄱ. X재의 수요 곡선은 수직선으로 나타난다.
ㄴ. X재와 달리 Y재의 수요는 가격에 대해 비탄력적이다.
ㄷ. Z재 수요의 가격 탄력성은 X재보다 크다.
ㄹ. Y재와 Z재는 모두 가격 상승률보다 수요량 감소율이 크다.

① ㄱ, ㄴ ② ㄱ, ㄷ ③ ㄴ, ㄷ ④ ㄷ, ㄹ

165. 정답 ③

[해설]

X재는 가격 변동과 관계없이 판매 수입이 일정하므로 X재의 수요는 가격에 대해 단위 탄력적이다. Y재는 가격이 상승하면 판매 수입이 증가하므로 Y재의 수요는 가격에 대해 비탄력적이다. Z재는 가격이 상승하면 판매 수입이 감소하므로 Z재의 수요는 가격에 대해 탄력적이다.

ㄴ. X재의 수요는 가격에 대해 단위 탄력적이고, Y재의 수요는 가격에 대해 비탄력적이다.

ㄷ. Z재의 수요는 가격에 대해 탄력적이고, X재의 수요는 가격에 대해 단위 탄력적이므로 Z재 수요의 가격 탄력성은 X재보다 크다.

[오답 피하기]

ㄱ. 수요 곡선이 수직선으로 나타날 경우 수요는 가격에 대해 완전 비탄력적이다.

ㄹ. 가격 상승률보다 수요량 감소율이 클 경우 수요는 가격에 대해 탄력적이다. Y재의 수요는 가격에 대해 비탄력적이다.

166. 정부는 갑작스러운 수요 증가(D → D′)로 가격이 폭등한 X재 시장의 안정을 위해 그림과 같이 가격을 P1으로 제한하는 정책을 실시하였다. 이 정책에 대한 분석으로 옳은 것은?

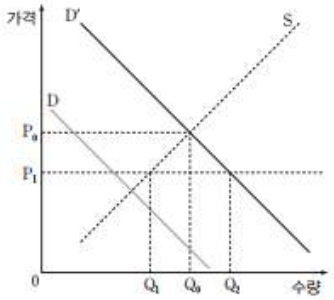

① 소비자 잉여는 감소한다.
② X재의 거래량은 Q2까지 증가한다.
③ Q0Q2만큼의 초과 수요가 발생한다.
④ 정부 정책은 생산자 보호를 목적으로 한다.
⑤ 수요가 D 수준으로 돌아가면 정책의 실효성은 사라진다.

166. 정답 ⑤

[해설]

정부는 갑작스러운 수요 증가로 인한 X재의 가격 폭등에 대응하기 위해 X재의 가격을 시장 균형인 P_0보다 낮은 P1으로 제한하는 최고 가격제를 실시하였다.

⑤ 수요가 원래의 수준으로 돌아가면 X재의 균형 가격이 P_1보다 낮아지므로 최고 가격제의 실효성은 사라진다.

[오답 피하기]

① 최고 가격제를 실시하면 시장 균형에 비해 가격은 낮아지고, 거래량은 감소한다. 이때 소비자 잉여는 최고 가격제 실시 이전에 비해 아래 그림의 a만큼 감소하고, b만큼 증가한다. 하지만 제시된 자료만으로는 a와 b의 정확한 면적을 구할 수 없으므로 소비자 잉여의 증감 여부는 판단할 수 없다.

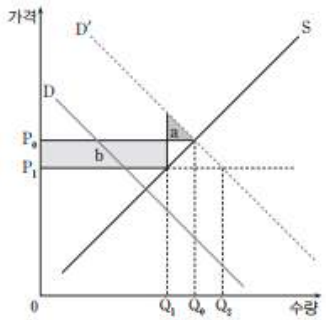

② 최고 가격제 실시 후 X재의 거래량은 Q_1으로 감소한다.
③ 가격이 P_1일 때 X재의 수요량은 Q_2이고, 공급량은 Q_1이다. 따라서 Q_1Q_2만큼의 초과 수요가 발생한다.
④ 최고 가격제는 지나치게 높은 가격으로부터 소비자를 보호하기 위해 실시하는 정책이다.

167. 표는 A재의 가격에 따른 수요량과 공급량을 나타낸 것이다. 이에 대한 분석으로 옳은 것은?

가격(원)	수요량(개)	공급량(개)
1,000	400	600
800	400	500
600	400	400
400	400	300
200	400	200

① A재의 균형 가격은 400원이다.
② A재의 수요 곡선의 형태는 수평이다.
③ A재의 가격이 800원일 경우 거래량은 400개이다.
④ A재의 가격이 1,000원일 경우 200개의 초과 수요가 발생한다.

168. 정부가 소득세 제도를 (가)에서 (나)로 변경했을 때 나타나는 결과로 옳은 추론을 <보기>에서 고른 것은?

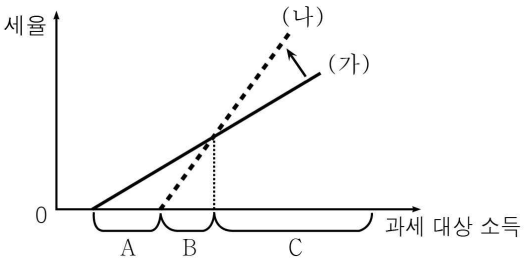

<보 기>

ㄱ. A구간의 납세자는 처분 가능 소득이 증가하였을 것이다.
ㄴ. B구간에서 소득세에 의한 재정 수입은 증가할 것이다.
ㄷ. C구간의 납세자는 세금 부담이 커졌을 것이다.
ㄹ. 조세의 역진성이 더욱 강화되었을 것이다.

① ㄱ, ㄴ ② ㄱ, ㄷ ③ ㄴ, ㄷ ④ ㄴ, ㄹ

167. 정답 ③

[해설]

③ A재의 가격이 800원일 경우 수요량이 400개이고 공급량은 500개이므로 거래량은 400개이다.

[오답 피하기]

① 가격이 600원일 경우 수요량과 공급량이 400개로 일치하므로, 균형가격은 600원이다.
② 수요 곡선의 형태는 수평으로 나오지 않는다.
④ 가격이 1,000원일 경우 200개의 초과 공급이 발생한다.

168. 정답 ②

[해설]

ㄱ. A 구간의 납세자는 세금을 면제 받는 지점에 포함되므로 처분 가능 소득이 증가한다.
ㄷ. C 구간의 납세자는 세율이 인상되어 세금 부담이 커진다.

[오답 피하기]

ㄴ. B 구간에서 소득세에 의한 재정 수입은 감소할 것이다.
ㄹ. 누진세의 성격이 더욱 강화되었다.

169. (가), (나)로 인한 X재의 시장 수요 또는 수요량이 최초의 A점에서 변화하는 방향을 옳게 짝지은 것은?

(가) 추수 감사절 다음날 금요일을 '블랙 프라이데이'라고 하고, 이날부터 상품의 가격을 할인하는 행사를 한다. 이에 X재도 가격의 50%를 할인하여 판매한다.
(나) 한 주간지는 풍부한 영양소를 갖춰 건강에 도움이 되는 10대 식품 중 하나로 X재를 선정하였다. 이로 인해 X재에 대한 선호도가 급격히 높아졌다.

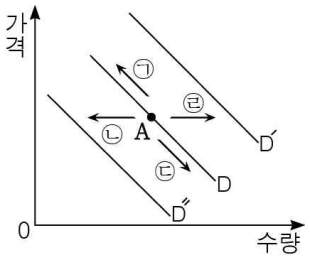

	(가)	(나)		(가)	(나)
①	㉠	㉢	②	㉡	㉣
③	㉢	㉠	④	㉢	㉣

169. 정답 ④

[해설]

④ 가격의 변동에 따라 수요량이 변동한다. 이러한 변동은 수요 곡선 위에 있는 점의 이동으로 파악할 수 있다. (가)의 경우 X재의 가격이 인하되었으므로 ㉢에 해당한다. (나)의 경우 소비자의 선호도가 증가하였으므로 수요 곡선이 우측으로 이동하는 ㉣에 해당한다.

170. 그림은 교사가 재화 간의 관계를 설명하면서 제시한 것이다. 이를 바탕으로 A, B, C재를 옳게 짝지은 것은?

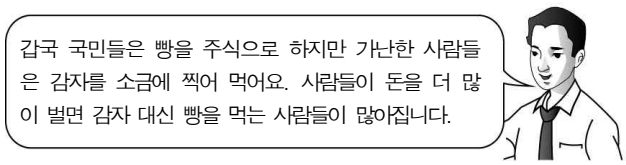

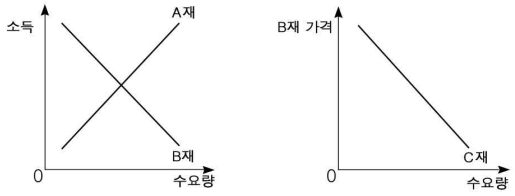

	A	B	C		A	B	C
①	빵	감자	소금	②	빵	소금	감자
③	감자	빵	소금	④	감자	소금	빵

170 정답 ①

[해설]

① 빵은 정상재, 감자는 열등재이다. 소득과 수요량의 관계를 나타낸 그래프를 통해 A재는 정상재, B재는 열등재임을 알 수 있다. 감자를 소금에 찍어 먹으므로 감자와 소금은 보완재이다. B재의 가격이 오르면 C재의 수요량이 감소하는 그래프를 통해 B재는 C재와 보완 관계에 있음을 알 수 있다.

171. 인플레이션에 관한 설명 중 옳은 것은?

① 인플레이션이 지속되면 화폐 자산 소유자, 채무자, 봉급·연금 생활자 등이 불리하다.

② 긴축 재정 정책과 긴축 금융 정책은 비용 인상 인플레이션의 적절한 대책이 된다.

③ 수요 견인 인플레이션이 지속되면 물가가 상승하고 실질 GDP는 증가한다.

④ 인플레이션이 지속되면 국제 수지는 개선된다.

171. 정답 ③

[해설]

③ 수요 견인 인플레이션이 지속되면 수요 곡선이 우측으로 이동하여 물가가 상승하고 실질 GDP는 증가한다.

[오답 피하기]

① 인플레이션이 지속되면 화폐 자산 소유자, 채권자, 봉급·연금 생활자 등이 불리하며, 채무자는 유리하다.

② 긴축 재정 정책과 긴축 금융 정책은 수요 견인 인플레이션의 적절한 대책이 된다. 비용 인상 인플레이션의 대책으로는 기술 혁신을 통한 생산비 절감 등을 들 수 있다.

④ 인플레이션이 지속되면 국내 상품 가격의 상승으로 수출은 감소하고 외국 상품 가격의 상대적 하락으로 수입은 증가하여 국제 수지는 악화된다.

172. 그림은 지난 1년간 미 달러화 대비 각국 화폐 가치의 변동률을 나타낸다. 이에 대한 설명으로 옳은 것은?

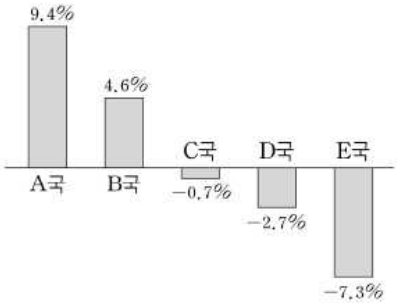

① A국 기업의 달러 표시 외채의 상환 부담이 커졌다.

② C국 시장에서 미국산 수입 상품의 가격 경쟁력은 높아졌다.

③ E국의 화폐 가치 변동을 초래한 요인으로 국내 이자율의 하락을 들 수 있다.

④ B국과 달리 C국 국민의 미국 여행 경비 부담은 감소되었다.

172. 정답 ③

미 달러화 대비 A국과 B국 화폐 가치는 상승했고, C국, D국, E국 화폐 가치는 하락했다. 화폐 가치의 하락은 외화 대비 환율 상승을 의미한다. 즉 미 달러화 대비 A국과 B국의 환율은 하락한 반면, C국, D국, E국의 환율은 상승했다.

③ 국내 이자율의 하락은 달러화의 유출을 가져온다. 따라서 달러화에 대한 수요 증가로 환율이 상승한다.

[오답 피하기]

① 환율이 하락한 A국 기업의 달러 표시 외채의 상환 부담이 작아졌다.

② 환율이 상승한 C국 시장에서 미국산 수입 상품의 가격 경쟁력은 낮아졌다.

④ 환율이 하락한 B국과 달리 환율이 상승한 C국 국민의 미국 여행 경비 부담은 증가되었다.

173. 다음 자료를 근거로 변동 방향을 파악할 수 있는 고용 지표만을 <보기>에서 있는 대로 고른 것은?

◦ 15세 이상 인구는 변동이 없다. ◦ 비경제 활동 인구는 증가하고, 취업자는 감소하였다

< 보 기 >

ㄱ. 고용률 ㄴ. 실업률
ㄷ. 취업률 ㄹ. 경제 활동 참가율

① ㄱ, ㄷ ② ㄱ, ㄹ
③ ㄴ, ㄷ ④ ㄱ, ㄴ, ㄹ

173. 정답 ②

ㄱ. 15세 이상 인구는 변동이 없고, 취업자는 감소하였기 때문에 고용률은 하락한다.

ㄹ. 15세 이상 인구는 변동이 없고, 비경제 활동 인구는 증가하였기 때문에 경제 활동 참가율은 하락한다.

[오답 피하기]

ㄴ, ㄷ. 경제 활동 인구와 취업자 모두 감소하였다. 그런데 경제 활동 인구의 감소 크기와 취업자의 감소 크기를 비교할 수 없으므로 취업률과 실업률의 변동 방향은 알 수 없다.

174. 그림은 X재와 Y재만을 생산하는 갑국의 생산 가능 곡선이다. 이에 대한 분석으로 옳지 않은 것은?

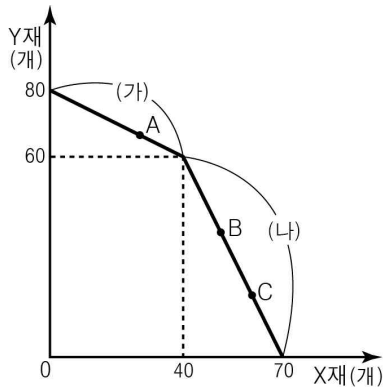

① A, B, C는 모두 효율적인 생산 조합이다.
② B와 C에서 X재 1개 추가 생산의 기회비용은 동일하다.
③ (가)구간의 X재 1개 추가 생산의 기회비용은 Y재 1/2개이다.
④ Y재 1개 추가 생산의 기회비용은 (가)구간에 비해 (나)구간에서 더 크다.

174. 정답 ④

[해설]

④ Y재 1개 추가 생산의 기회비용은 (가) 구간에서는 X재 2개, (나) 구간에서는 X재 1/2개이므로, (나)구간보다 (가)구간에서 더 크다.

[오답 피하기]

①, ②, ③ 모두 옳은 내용이다.

175. 그림은 A재의 시장 균형점(E)을 나타낸 것이다. 이에 대한 설명으로 옳은 것은?

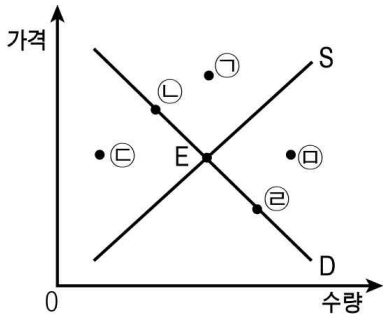

① A재의 원자재 가격이 하락하면 ㉠으로 이동할 수 있다.
② A재의 소비자 수가 감소하면 ㉡으로 이동할 수 있다.
③ A재의 선호도가 증가하고, A재의 생산 기업의 수가 감소하면 ㉢으로 이동할 수 있다.
④ A재의 대체재 가격이 상승하고, A재의 생산 비용이 감소하면 ㉣으로 이동할 수 있다.

175. 정답 ④

[해설]

④ A재의 대체재 가격이 상승하면 수요가 증가하고, A재의 생산 비용이 감소하면 공급이 증가하므로 ㉣으로 이동할 수 있다.

[피하기]

① A재의 원자재 가격이 하락하면 공급이 증가하므로 공급 곡선이 오른쪽으로 이동한다.
② A재의 소비자 수가 감소하면 수요가 감소하므로 수요 곡선이 왼쪽으로 이동한다.
③ A재의 선호도 증가는 수요가 증가되므로 수요 곡선이 오른쪽으로 이동하고, A재의 생산 기업의 수가 감소하면 공급이 감소되므로 공급 곡선이 왼쪽으로 이동한다.

176. 다음 (가), (나)의 일반적인 특징으로 옳은 것은?

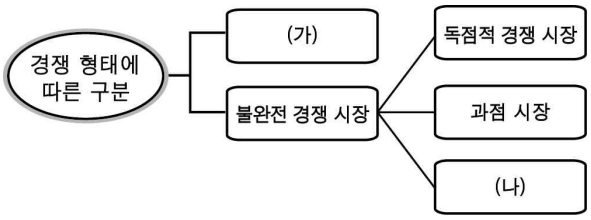

① (가)에서 품질 개선과 같은 비가격 경쟁이 나타난다.
② (가)에서 개별 공급자는 시장 가격 결정에 영향을 줄 수 없다.
③ (나)에서 기업 간 담합이 발생할 수 있다.
④ (나)에서 신규 기업의 시장 진입이 자유롭다.

176. 정답 ②

[해설]

(가)는 완전 경쟁 시장, (나)는 독점 시장이다.

② 완전 경쟁 시장에서는 개별 공급자는 가격 순응자로서 시장 가격 결정에 영향을 줄 수 없다.

[오답 피하기]

① 완전 경쟁 시장은 동질의 상품이 거래되므로 품질 개선과 같은 비가격 경쟁이 발생하지 않는다.
③ 과점 시장에서 담합이 발생할 수 있다.
④ 독점 시장은 신규 기업의 시장 진입이 자유롭지 않다.

177. 밑줄 친 ㉠, ㉡의 수요의 가격 탄력성으로 옳은 것은? (단, A, B 화장품은 수요 법칙을 따른다.)

> 화장품 가격 인상의 효과는 ㉠A 화장품과 ㉡B 화장품에서 다르게 나타난다. A 화장품은 소비자들이 가격에 민감하여 가격을 조금만 올려도 매출액이 감소한다. 반면, B 화장품은 고정적으로 사용하는 소비자들이 많아 가격을 올리면 오히려 매출액이 증가한다.

	㉠	㉡
①	탄력적	비탄력적
②	탄력적	단위 탄력적
③	비탄력적	탄력적
④	비탄력적	단위 탄력적

177. 정답 ①

[해설]

① 가격의 변화에 따른 수요량의 변화가 민감한 A 화장품은 수요의 가격 탄력성이 탄력적이고, 민감하지 않은 B 화장품은 비탄력적이다.

180. 자료에 대한 분석으로 옳은 것은?

> 표는 X재 가격에 따른 개별 수요량과 시장 공급량을 나타낸 것이다. 단, 수요자는 갑, 을만 존재한다.

가격(원)	수요량(개)		공급량(개)
	갑	을	
700	30	15	75
600	30	25	70
500	30	35	65
400	30	45	60
300	30	55	55

① X재는 수요 법칙이 성립하지 않는다.
② X재 가격이 700원일 때 시장 수요량은 75개이다.
③ X재 균형 가격은 400원, 균형 거래량은 60개이다.
④ X재 가격이 300원일 때 가격 하락 압력이 존재한다.
⑤ 을의 수요량이 모든 가격 수준에서 15개씩 증가할 경우 X재 균형 가격은 600원이 된다.

180. 정답 ⑤

[해설]

⑤ 을의 수요량이 모든 가격 수준에서 15개씩 증가할 경우 수요량과 공급량이 같아지는 균형 거래량은 70개이고, 균형 가격은 600원이다.

[오답 피하기]

① 갑과 을의 X재 개별 수요량을 합친 것이 X재의 시장 수요량이고, X재는 수요 법칙이 성립한다.
③ X재 균형 가격은 시장 수요량과 시장 공급량이 같아지는 500원에서 결정된다.

181. 자료에 대한 옳은 설명을 <보기>에서 고른 것은?

<생산 측면에 나타난 자원의 비효율적 배분의 유형>

유형	문제점	해결 방안
(가)	과소 생산	정부의 직접 생산
(나)	과소 생산	보조금 지급
외부 불경제	과다 생산	(다)

< 보 기 >

ㄱ. (가)는 공공재 부족이다.
ㄴ. (나)의 사례로 환경 오염을 들 수 있다.
ㄷ. (다)에는 '세금 부과'가 들어갈 수 있다.
ㄹ. (가)와 달리 (나)는 시장 실패 현상이다.

① ㄱ, ㄴ ② ㄱ, ㄷ
③ ㄴ, ㄷ ④ ㄴ, ㄹ

181. 정답 ②

[해설]

(가)는 공공재 부족, (나)는 외부 경제이다. 세금 부과는 외부 불경제에 대한 해결 방안에 해당한다.

[오답 피하기]

ㄴ. 환경 오염은 외부 불경제이다.
ㄹ. (가), (나) 모두 시장 실패 현상이다.

182. 밑줄 친 ㉠~㉣에 대한 옳은 설명을 <보기>에서 고른 것은? (단, 제시된 사실 이외의 요인은 고려하지 않는다.)

갑은 5일 동안 여행을 가기 위해 왕복 항공권을 ㉠100만 원에 구입했다. 그런데 친구에게 그 기간 동안 아르바이트를 하면 ㉡하루에 20만 원을 받을 수 있다는 제안을 받고 ㉢여행을 갈지, ㉣아르바이트를 할지 고민 중이다. 항공권을 제외한 여행 경비는 5일간 총 100만 원이며, 구입한 항공권은 환불이나 타인 양도가 불가능하다.

< 보 기 >

ㄱ. ㉠은 갑의 선택에서 고려하면 안 되는 비용이다.
ㄴ. ㉢ 선택의 암묵적 비용은 110만 원이다.
ㄷ. ㉢을 선택했다면 편익이 200만 원보다 크기 때문이다.
ㄹ. ㉣ 선택의 기회비용은 ㉡이다.

① ㄱ, ㄴ ② ㄱ, ㄷ
③ ㄴ, ㄷ ④ ㄴ, ㄹ

182. 정답 ②

[해설]

ㄱ. 갑이 여행을 선택할 때 ㉠은 매몰 비용이므로 선택에서 고려하면 안 된다.
ㄷ. 기회비용은 200만원이므로 ㉢을 선택했다면 편익이 200만 원보다 크기 때문이다

[오답 피하기]

ㄴ. ㉢ 선택의 암묵적 비용은 5일 간의 아르바이트로 벌어들일 수 있는 소득이므로 100만 원이다.
ㄹ. 갑이 아르바이트를 선택할 때의 기회비용은 200만 원이다.

183. 정부가 이자율 상한선을 r_1에서 r_2로 낮춘다면 금융 시장에 어떤 변화가 나타나는가?

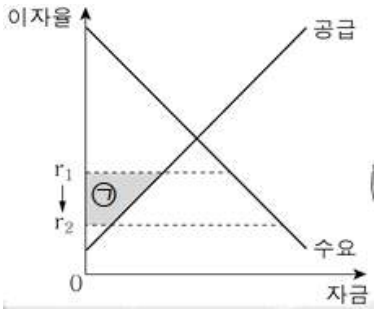

① 수요량은 감소한다.
② 사회적 잉여는 증가한다.
③ 시장 거래량은 감소한다.
④ 초과 공급량은 증가한다.
⑤ 소비자 잉여는 ㉠만큼 감소한다.

183. 정답 ③

[해설]

③ 이자율의 상한선을 정하는 정책은 최고 가격제 정책이다. 이자율 상한선을 더 낮추면 초과 수요는 증가하고, 시장 거래량은 줄어들게 된다.

[오답 피하기]

⑤ 이자율 상한선을 낮춤에 따라 줄어드는 면적 ㉠은 생산자 잉여가 감소하는 부분이다.

184. 표는 갑국의 연도별 고용 통계이다. 이에 대한 설명으로 옳지 않은 것은?

(단위 : 만 명)

구분	2015년	2016년
15세 이상 인구	100	120
취업자 수	70	㉡
실업자 수	20	10
㉠비경제 활동 인구	10	10

① 구직 단념자는 ㉠에 포함된다.
② ㉡에 해당하는 수치는 100이다.
③ 2015년 고용률은 70%이다.
④ 2016년 실업률은 10%이다.
⑤ 2016년 경제 활동 인구는 110만 명이다.

184. 정답 ④

[해설]

④ 2016년 실업자 수와 취업자 수를 합친 경제 활동 인구는 110만 명이다. 실업자 수는 10만 명이므로 실업률은 약 9.1%이다.

185. 교사의 질문에 대해 적절한 답변을 한 학생을 <보기>에서 고른 것은?

교사 : 문장을 옳게 수정한다면 어떻게 바꿔야 할까요?
A : 기업은 자본을 구입하고 그 대가로 지대를 지급한다.
B : 금융 시장에서 초과 공급이 발생하면 자금 거래량이 증가한다.
C : 최저 임금제가 시행되면 노동에 대한 초과 수요가 발생한다.
D : 노동 시장에서 임금이 하락하면 노동에 대한 수요가 증가한다.

<보 기>

갑 : A는 '가계는 자본을 구입하고 그 대가로 지대를 지급한다.'로 바꿔야 합니다.
을 : B는 '금융 시장에서 초과 공급이 발생하면 이자율이 상승한다.'로 바꿔야 합니다.
병 : C는 '최저 임금제가 시행되면 노동에 대한 초과 공급이 발생한다.'로 바꿔야 합니다.
정 : D는 '노동 시장에서 임금이 하락하면 노동에 대한 수요량이 증가한다.'로 바꿔야 합니다.

① 갑, 을 ② 갑, 병
③ 을, 병 ④ 병, 정

185. 정답 ④

[해설]

병 : 최저 임금제가 시행되면 노동에 대한 초과 공급이 발생한다.
정 : 노동 시장에서 임금이 하락하면 노동에 대한 수요량이 증가한다.

[오답 피하기]

갑 : 기업은 자본을 구입하고 그 대가로 이자를 지급한다.
을 : 금융 시장에서 초과 공급이 발생하면 이자율이 하락한다.

186. 표는 갑 기업의 X재 생산량에 따른 총수입과 총비용을 나타낸 것이다. 이에 대한 분석으로 옳은 것은? (단, 생산된 X재는 모두 판매된다.)

생산량(개)	1	2	3	4	5	6
총수입(만 원)	8	16	24	32	40	48
총비용(만 원)	10	12	16	24	34	46

① 생산량이 6개일 때 이윤은 최대가 된다.
② 최대로 얻을 수 있는 이윤은 8만 원이다.
③ 생산량이 5개일 때 1개당 생산 비용은 8만 원이다.
④ 생산량이 1개 증가할 때마다 추가적으로 얻는 수입은 감소한다.

186. 정답 ②

[해설]

② 최대 이윤은 생산량이 3개, 4개일 때 8만 원이다.

[오답 피하기]

④ 생산량이 1개 증가할 때마다 추가적으로 얻는 수입은 8만 원으로 동일하다.

187. 그림은 두 경제 체제를 비교한 것이다. (가), (나)에 들어갈 적절한 질문을 <보기>에서 고른 것은?

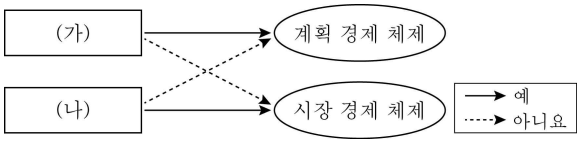

< 보 기 >

ㄱ. (가)-경제적 유인을 중시하는가?

ㄴ. (가)-정부의 명령에 따라 경제 문제를 해결하는가?

ㄷ. (나)-기본적인 경제 문제가 발생하는가?

ㄹ. (나)-'보이지 않는 손'에 의한 자원 배분을 강조하는가?

① ㄱ, ㄴ ② ㄱ, ㄷ
③ ㄴ, ㄷ ④ ㄴ, ㄹ

187. 정답 ④

[해설]

(가)에 들어갈 적절한 질문은 '정부의 명령에 따라 경제 문제를 해결하는가?'이다. (나)에 들어갈 적절한 질문은 '경제적 유인을 중시하는가?', ''보이지 않는 손'에 의한 자원 배분을 강조하는가?'이다.

[오답 피하기]

ㄱ. 경제적 유인을 중시하는 것은 시장 경제 체제이다.

ㄷ. 계획 경제 체제와 시장 경제 체제 모두 기본적인 경제 문제가 발생한다.

188. 다음은 갑국의 경제 상황이다. 밑줄 친 ㉠~㉣에 대한 옳은 설명을 <보기>에서 고른 것은?

조류 인플루엔자(AI) 사태로 ㉠달걀 품귀 현상이 심화되고 있습니다. ㉡알 낳는 닭의 30% 이상이 살처분되었기 때문입니다. ㉢달걀 가격도 올라 달걀을 원료로 하는 과자 업체들은 일부 품목의 생산을 중단하기도 했습니다. 이에 정부는 ㉣달걀 수입을 지원하기 위한 정책을 추진하기로 했습니다.

< 보 기 >

ㄱ. ㉠은 달걀 시장의 초과 공급 현상을 의미한다.

ㄴ. ㉡은 달걀 시장의 수요 증가 요인이다.

ㄷ. ㉢은 달걀을 원료로 하는 과자 시장의 공급 감소 요인이다.

ㄹ. ㉣은 달걀 시장의 공급 증가 요인이다.

① ㄱ, ㄴ ② ㄱ, ㄷ
③ ㄴ, ㄷ ④ ㄷ, ㄹ

188. 정답 ④

[해설]

ㄷ. 달걀 가격 상승은 달걀을 원료로 하는 과자 시장의 공급을 감소시키는 요인이다.

ㄹ. 달걀 수입으로 갑국 달걀 시장의 공급이 증가할 수 있다.

189. 표는 갑국 경상 수지의 항목별 변화를 나타낸 것이다. 이에 대한 분석으로 옳은 것은?

(단위 : 억 달러)

항목 \ 연도	2014년	2015년	2016년
상품 수지	20	30	40
서비스 수지	-10	20	-30
본원 소득 수지	50	-50	60
이전 소득 수지	10	-10	-20

① 상품 수출입 규모는 매년 증가하였다.
② 임금이 포함되는 항목의 순유입액이 가장 많은 해는 2014년이다.
③ 2015년에 운송료가 포함되는 항목은 적자를 기록하였다.
④ 2016년의 경상 수지는 '갑국 화폐/달러화' 환율의 상승 요인이다.
⑤ 2016년에 국가 간 무상 원조가 포함되는 항목은 수취액보다 지급액이 많았다.

189. 정답 ⑤

[해설]

⑤ 2016년의 국가 간 무상 원조가 포함되는 이전 소득 수지는 -20억 달러이므로 수취액보다 지급액이 많았다.

[오답 피하기]

① 상품 수출입의 규모는 알 수 없다.
② 임금이 포함되는 항목은 본원 소득 수지이고, 순유입액이 가장 많은 해는 2016년이다.
③ 운송료가 포함되는 항목은 서비스 수지로, 2015년에 20억 달러의 흑자를 기록했다.
④ 2016년의 경상 수지는 흑자이므로 '갑국 화폐/달러화' 환율의 하락 요인이다.

190. 그림에 대한 옳은 분석을 <보기>에서 고른 것은? (단, 기준 연도는 2015년이며, 물가 수준은 GDP 디플레이터로 측정한다.)

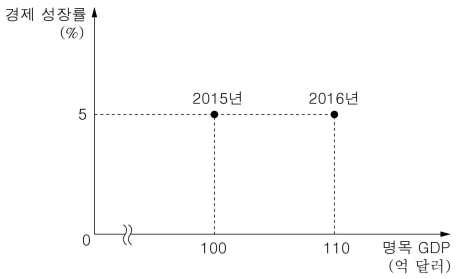

< 보 기 >

ㄱ. 2014년 실질 GDP는 100억 달러보다 적다.
ㄴ. 2016년 GDP 디플레이터는 110이다.
ㄷ. 2016년 물가는 전년도에 비해 상승하였다.
ㄹ. 2015년 실질 GDP는 2016년과 동일하다.

① ㄱ, ㄴ ② ㄱ, ㄷ
③ ㄴ, ㄷ ④ ㄴ, ㄹ

190. 정답 ②

[해설]

ㄱ. 실질 GDP는 2015년에 100억 달러, 2016년에 105억 달러이다. 2015년의 경제 성장률이 5%이므로 2014년 실질 GDP는 100억 달러보다 적다.
ㄷ. 2016년 GDP 디플레이터가 100보다 크므로 전년도에 비해 물가가 상승하였다.

191. 밑줄 친 ㉠~㉢에 대한 설명으로 옳은 것은? (단, 제시된 내용 외에는 고려하지 않는다.)

> 갑은 빵집에서 시간당 1만 원을 받는 아르바이트를 하고 있다. 며칠 뒤에 갑이 좋아하는 가수의 콘서트가 열리는데 입장권의 가격은 ㉠5만 원이고, 콘서트를 보려면 아르바이트를 4시간 못하게 된다. 갑은 ㉡아르바이트를 하는 것과 ㉢콘서트를 보는 것 중 무엇을 선택할지 고민하고 있다.

① ㉡의 편익은 5만 원이다.
② ㉢의 매몰 비용은 4만 원이다.
③ ㉠은 ㉢의 명시적 비용이다.
④ ㉢과 달리 ㉡은 기회비용이 발생한다.
⑤ ㉢의 편익이 8만 원이면 ㉢을 선택하는 것이 합리적이다.

191. 정답 ③

[해설]

③ 콘서트 관람이 합리적 선택이 되기 위해서는 콘서트 관람의 편익뿐만 아니라 입장권의 가격(명시적 비용)과 아르바이트에서 얻을 수 있는 이익(암묵적 비용)을 모두 고려해야 한다.

[피하기]

① ㉡의 편익은 4만 원이다.
② ㉢의 암묵적 비용은 4만 원이다.
④ ㉢과 ㉡은 모두 기회비용이 발생한다.
⑤ 기회비용이 9만원이므로 ㉢의 편익이 8만 원이면 ㉢을 선택하지 않는 것이 합리적이다.

192. 표는 X재 시장의 가격에 따른 수요량과 공급량을 나타낸 것이다. 이에 대한 설명으로 옳은 것은?

가격(만 원)	수요량(개)	공급량(개)
1	100	20
2	90	50
3	80	80
4	70	110
5	60	140

① 가격이 1만 원인 경우 초과 공급이 발생한다.
② 가격이 2만 원인 경우 시장 거래량은 3만 원인 경우보다 많다.
③ 가격이 4만 원인 경우 가격 상승 압력이 발생한다.
④ 균형 가격에서 공급자 전체의 판매 수입은 240만 원이다.

192. 정답 ④

[해설]

④ X재 시장의 균형 가격은 3만 원, 균형 거래량은 80개이다. 따라서 균형 가격에서 공급자 전체의 판매 수입은 240만 원이다.

[오답 피하기]

① 가격이 1만 원인 경우 초과 수요가 발생한다.
② 가격이 2만 원인 경우 시장 거래량은 50개이고, 3만 원인 경우는 80개이다.
③ 가격이 4만 원인 경우 가격 하락 압력이 발생한다.

193. 다음 자료는 X~Z재의 관계를 나타낸 것이다. X재의 원자재 가격 상승이 각 재화 시장에 미칠 영향에 대한 추론으로 옳은 것은? (단, 모든 재화는 수요와 공급의 법칙을 따른다.)

X재와 Y재는 용도가 비슷하여 서로 대체하여 소비할 수 있는 관계이고, X재와 Z재는 함께 사용함으로써 만족감이 더욱 커지는 관계이다. Y재와 Z재는 연관 관계가 없다.

① X재의 수요량은 증가할 것이다.
② Y재의 수요는 증가할 것이다.
③ Y재의 균형 거래량은 감소할 것이다.
④ Z재의 수요는 증가할 것이다.
⑤ Z재의 균형 가격은 상승할 것이다.

193. 정답 ②
[해설]
② X재와 Y재는 대체재 관계이고, X재와 Z재는 보완재 관계이다. X재의 원자재 가격 상승으로 X재 가격이 상승하면 X재 수요량이 감소하는데, 이로 인해 Y재 수요는 증가하고 Z재 수요는 감소한다.

194. 표는 갑국과 을국이 쌀과 사과를 각각 1kg씩 생산하는데 필요한 비용을 나타낸 것이다. 이에 대한 옳은 분석을 <보기>에서 고른 것은?

(단위 : 달러)

구분	쌀 1kg	사과 1kg
갑국	6	6
을국	4	2

< 보 기 >

ㄱ. 갑국은 쌀 생산에 절대 우위를 가진다.
ㄴ. 을국에서 쌀 1kg과 사과 2kg의 생산비는 같다.
ㄷ. 사과 1kg 생산의 기회비용은 갑국이 을국보다 작다.
ㄹ. 갑국은 쌀 생산에, 을국은 사과 생산에 비교 우위를 가진다.

① ㄱ, ㄴ ② ㄱ, ㄷ
③ ㄴ, ㄷ ④ ㄴ, ㄹ

194. 정답 ④
[해설]
ㄴ. ㄹ. 을국은 쌀과 사과의 생산에서 절대 우위를 가진다. 비교 우위의 원리를 적용하면 갑국은 쌀 생산에, 을국은 사과 생산에 비교 우위를 가진다.
[오답 피하기]
ㄱ. 쌀 1kg 생산에 을의 비용이 더 적게 들므로 을국은 쌀 생산에 절대 우위를 가진다
ㄷ. 사과 1kg 생산의 기회비용은 갑국이 쌀 1kg, 을국이 쌀 0.5kg이다.

195. 빈칸 (가)에 들어갈 적절한 내용을 <보기>에서 고른 것은?

갑 : 자유 무역이 확대되면 유치산업이 몰락하여 우리 경제에 부정적인 영향을 미치지 않을까?
을 : 그런 측면도 있지만, 자유 무역을 통해 우리 경제가 얻을 수 있는 이점도 많아.
예를 들면, (가)

* 유치산업 : 성장 잠재력은 있으나 아직 국제 경쟁력을 갖추지 못한 산업

< 보 기 >

ㄱ. 규모의 경제를 활용하여 생산비를 낮출 수 있어.
ㄴ. 정부가 국내 산업을 보호하거나 지원하기가 쉬워져.
ㄷ. 다양한 제품을 더 낮은 가격에 소비할 기회가 증가해.
ㄹ. 외국의 경제 위기가 국내에 파급되는 것을 막을 수 있어.

① ㄱ, ㄴ ② ㄱ, ㄷ
③ ㄴ, ㄷ ④ ㄴ, ㄹ

195. 정답 ②

[해설]

자유 무역 확대에 대해 갑은 부정적인 영향을, 을은 긍정적인 영향을 제시한다.

ㄱ. 자유무역을 통해 시장이 확대되므로 규모의 경제를 활용하여 생산비를 낮출 수 있다.

ㄷ. 다양한 제품을 더 낮은 가격에 소비할 기회가 증가하는 것도 자유 무역의 장점이다.

[오답 피하기]

ㄴ. 자유 무역이 확대되면 정부가 국내 산업을 보호하거나 지원하기 어려워진다.

ㄹ. 자유 무역이 확대되면 외국의 경제 위기가 국내에 쉽게 파급될 수 있다.

196. 갑국의 명목 GDP와 실질 GDP의 변동을 나타낸 것이다. 이에 대한 분석으로 옳은 것은? (단, 기준연도는 2010년, 물가 지수는 GDP 디플레이터로 측정한다.)

구분	2011년	2012년	2013년	2014년
실질 GDP(억 달러)	500	550	600	650
명목 GDP(억 달러)	450	550	660	780

① 2011년의 물가 지수는 110이다.
② 2012년의 물가 수준은 전년도보다 낮아졌다.
③ 2013년의 물가 수준은 기준 연도보다 10% 낮다.
④ 2014년의 물가는 전년도보다 약 9.1% 상승하였다.
⑤ 2012년~2014년의 경제성장률은 동일하다.

[정답] ④

197. 다음 자료는 갑국과 을국의 고용 상황 변화를 나타낸 것이다. 이에 대한 분석으로 옳은 것은?

- 갑국과 을국 모두 15세 이상 인구는 변하지 않았다.
- 갑국의 경제 활동 참가율은 높아졌고, 고용률은 변하지 않았다.
- 을국의 경제 활동 참가율은 변하지 않았고, 고용률은 높아졌다.

① 갑국과 을국 모두 실업률이 상승하였다.
② 갑국과 을국 모두 취업자 수가 증가하였다.
③ 갑국과 을국 모두 경제 활동 인구가 증가하였다.
④ 갑국의 실업자는 경제 활동 인구 증가 인원과 같은 수만큼 감소하였다.
⑤ 을국의 실업자는 취업자 증가 인원과 같은 수만큼 감소하였다.

[정답] ⑤

198. 다음은 외부효과와 관련된 그래프이다. 그래프에서 S_0은 어떤 재화 생산에서 기업 차원의 비용만 고려한 공급곡선이고, S_1은 사회적 차원의 비용까지 고려한 공급 곡선이다. 그래프와 관련하여 옳은 내용만을 <보기>에서 고르면?

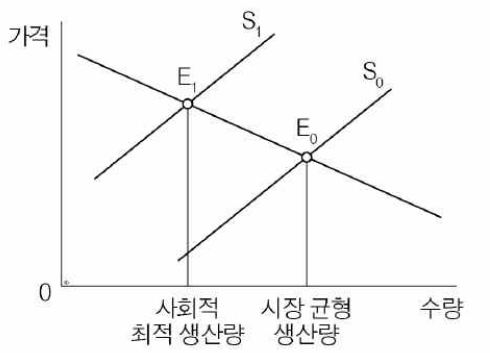

< >

ㄱ. 효율적인 자원배분이 어렵게 된다.
ㄴ. 정부는 되도록이면 시장에 개입을 하지 말아야한다.
ㄷ. 시장에서 사회전체가 필요로 하는 양보다 많이 생산된다.
ㄹ. 정당한 대가 없이 다른 경제 주체에게 손해를 끼치는 외부 경제에 해당한다.

① ㄱ, ㄴ ② ㄱ, ㄷ ③ ㄱ, ㄹ
④ ㄴ, ㄷ ⑤ ㄴ, ㄹ

[정답] ②

199. 고용 및 실업 지표와 관련한 설명으로 옳지 <u>않은</u> 것은?

① 경제 활동 인구가 많아지면 취업률은 높아지고 실업률은 낮아진다.
② 경제 활동 참가율이 증가할 때 실업자 수가 일정하면 실업률은 낮아진다.
③ 경제활동인구에 변함이 없을 경우 취업률이 상승하면 실업률은 하락한다.
④ 생산 가능 인구가 일정할 때 비경제 활동 인구가 증가하면 경제 활동 참가율은 낮아진다.
⑤ 생산가능 인구와 취업자 수가 일정할 때, 구직 단념자가 증가하면 취업률은 높아지고 실업률이 낮아지나 고용률에는 변함이 없다.

[정답] ①

200. 인플레이션에 대한 설명으로 옳지 <u>않은</u> 것은?

① 수요 견인 인플레이션은 주로 통화량 증가나 정부 지출이 증가할 때 나타난다.
② 총수요가 총공급을 초과하여 나타나는 인플레이션을 수요 견인 인플레이션이라고 한다.
③ 총공급의 감소로 물가가 상승하는 인플레이션을 비용 인상 인플레이션이라고 한다.
④ 인플레이션이 발생하게 되면 실물 자산을 가진 사람들은 이익을 얻게 되고 경상 수지도 개선된다.
⑤ 일반적으로 생산 비용이 인상되어 총공급 곡선이 움직이게 되면 물가가 상승하고, 국내 총생산은 감소한다.

[정답] ④

201. 실업과 관련한 설명으로 옳은 것을 고르면?

< >

ㄱ. 실업률이 0%인 상태를 완전 고용이라고 한다.
ㄴ. 물가 상승률과 실업률은 항상 반대 방향으로 움직인다.
ㄷ. 실질 GDP 성장률과 실업률 사이에는 음(-)의 관계가 있다.
ㄹ. 실업의 발생 원인과 관련하여 사회적으로 가장 문제가 되는 것은 경기 불황으로 인한 실업이다.

① ㄱ, ㄴ ② ㄱ, ㄷ ③ ㄱ, ㄹ
④ ㄴ, ㄷ ⑤ ㄴ, ㄹ

[정답] ⑤

202. 표에 대한 옳은 분석을 <보기>에서 고른 것은? (단, 기준연도는 2014년이다.)

구분	갑국		을국	
	2014년	2015년	2014년	2015년
경제 성장률(%)	5	5	5	0
명목 GDP (억 달러)	100	120	100	120

<보기>

ㄱ. 2014년 실질GDP는 갑국과 을국이 같다.
ㄴ. 2015년에 갑국이 을국보다 물가가 더 상승하였다.
ㄷ. 2015년 실질GDP는 갑국이 을국보다 5억 달러 많다.
ㄹ. 2015년 1인당 명목GDP는 갑국보다 을국이 더 크다

① ㄱ, ㄴ ② ㄱ, ㄷ ③ ㄴ, ㄷ
④ ㄴ, ㄹ ⑤ ㄷ, ㄹ

[정답] ②

203. GDP의 설명으로 옳지 않은 것은? [2개]

① 각 생산 단계에서 창출된 부가가치의 총액이다.
② 1인당 GDP는 한 나라의 국민 복지 수준을 나타낸다.
③ 총생산 규모가 같아도 물가가 오르면 명목 GDP는 커지게 된다.
④ 주부들의 가사노동, 학생들의 봉사활동 등도 GDP에 반영된다.
⑤ 공해로 인한 질병을 치유하기 위해 들어간 비용은 GDP에 반영된다.

[정답] ②, ④

204. 다음 자료에 대한 설명으로 옳은 것은?

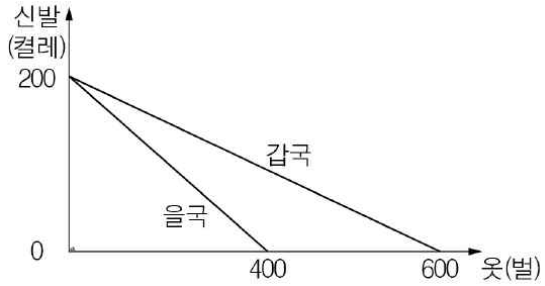

- 위 그림은 갑국과 을국이 주어진 생산요소를 최대한 활용하여 생산할 수 있는 두 재화의 조합을 나타낸 것이다.
- 각국은 비교우위가 있는 상품에 특화하여 무역을 하려 한다. 무역은 양국 모두에게 이익이 있을 때만 이루어진다.

① 갑국은 신발과 옷 모두에 절대 우위가 있다.
② 갑국은 신발에 특화하고, 을국은 옷에 특화한다.
③ 갑국의 옷 1벌에 대한 기회비용은 신발 3켤레이다.
④ 을국의 신발 1켤레에 대한 기회비용은 옷 2벌이다.
⑤ 신발 2켤레와 옷 5벌을 바꾸는 교역조건에서는 무역이 이루어지지 않는다.

[정답] ④

205. 다음 자료에 대한 옳은 분석만을 <보기>에서 있는 대로 고른 것은?

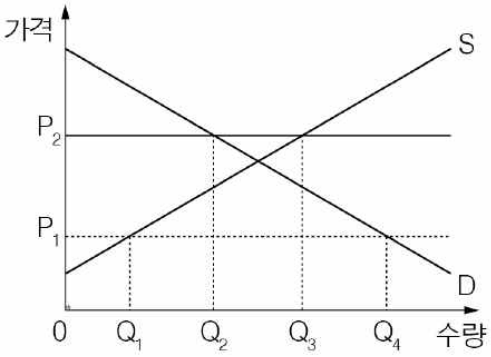

위 그림은 A국에서의 X재의 대한 수요, 공급을 나타낸 것이다. D는 X재에 대한 수요를, S는 X재에 대한 공급을 나타낸다. X재의 가격은 국제가격에 따라 P_1, 또는 P_2에서 결정된다.

A국은 타국과 자유무역을 하고 있으며 관세를 부과하지 않는다.

< >

ㄱ. X재 국제가격이 P1일 때 X재 수요가 증가하면 수입량은 증가한다.
ㄴ. A국이 X재 수입국이 되는 시장 상황에서 수입량은 Q_1Q_4이다.
ㄷ. A국이 X재 수출국이 되는 시장 상황에서 국내 생산량은 Q_2이다.
ㄹ. A국이 X재 수출국이 되는 시장 상황에서 국내 거래량은 Q_3이다.

① ㄱ, ㄴ ② ㄴ, ㄷ ③ ㄷ, ㄹ
④ ㄴ, ㄴ, ㄹ ⑤ ㄱ, ㄷ, ㄹ

[정답] ①

206. 그래프는 X재 시장에서 정부가 관세를 부과했을 때의 변화를 나타낸 것이다. 이에 대한 분석으로 옳은 것은?

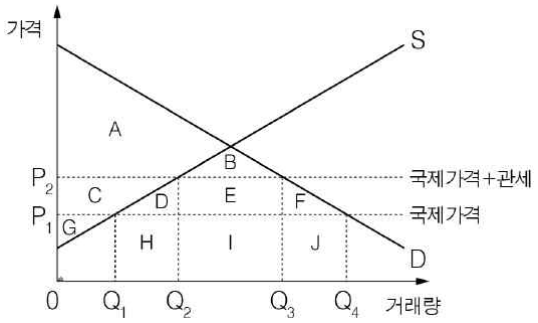

① 자유무역을 할 때 X재의 국내거래량은 Q1이다.
② 자유무역을 할 때 X재 수입으로 인한 해외 지출액은 H+I+J 이다.
③ 관세를 부과했을 때 정부의 관세 수입은 E+I 이다.
④ 관세를 부과했을 때 국내 소비자의 잉여는 A+B+C+D+E+F 이다.
⑤ 관세 부과 전과 후를 비교했을 때 사회적 손실은 H+J 이다.

[정답] ②

207. 다음 국제수지표에 대한 분석으로 옳은 것은?

(단위: 억 달러)

항목명		2007년	2008년
경상 수지		217.7	-32.1
	상품 수지	371.3	-51.7
	서비스 수지	-119.7	57.3
	본원 소득 수지	1.4	-44.4
	이전 소득 수지	-35.3	6.7
자본 · 금융 계정		-238.8	11.5
	자본 수지	-23.9	-1.1
	금융 계정	-214.9	12.6
오차 및 누락		21.1	20.6

① 2007년에는 상품 수출보다 수입이 많다.
② 2007년에 비해 2008년에 무역의 규모가 확대되었다.
③ 2007년에 비해 2008년의 준비자산은 (-)값을 가졌을 것이다.
④ 2007년부터 2008년까지 수출은 지속적으로 증가하고 있다.
⑤ 2007년에서 2008년까지 경상수지, 자본 · 금융계정과 오차 및 누락을 합하면 0이 된다.

[정답] ⑤

208. 그림의 a~e는 국내 외환 시장에서 나타날 수 있는 균형점들이다. 수출 감소와 자본 유출 감소가 동시에 발생했을 때 나타날 수 있는 균형점의 이동 방향으로 가장 적절한 것은? (단, 외환시장은 수요와 공급의 법칙을 따른다.)

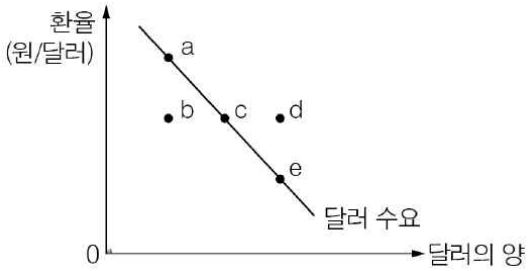

① a → e ② c → b ③ c → d
④ d → e ⑤ e → a

[정답] ②

209. 대미 달러 환율의 변화 추세가 그림과 같이 지속되는 경우 이에 대한 설명으로 옳은 것은? (단, 환율 변화 이외의 변수는 고려하지 않는다.)

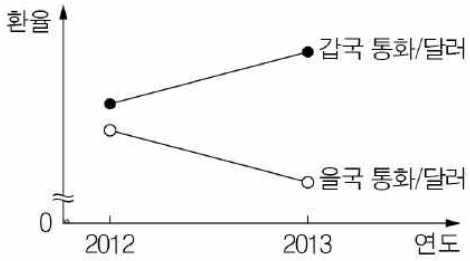

① 갑국의 달러 대비 화폐 가치는 높아진다.
② 갑국 기업은 수출 대금으로 받은 달러를 갑국 통화로 늦게 환전할수록 유리하다.
③ 달러 표시 외채가 있는 을국 기업은 외채 상환을 서두를수록 유리하다.
④ 을국 여행을 계획하는 미국 사람은 여행 일정을 뒤로 늦출수록 유리하다.
⑤ 미국 시장에서 을국의 수출품은 갑국의 수출품보다 가격 경쟁력이 높아진다.

[정답] ②

210. 그림의 A, B는 앞으로 예상되는 환율의 변화 방향을 나타낸다. 이에 대한 설명으로 적절한 것은?

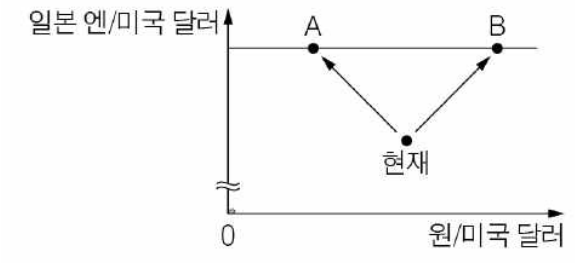

① A의 경우 엔화의 달러 대비 화폐 가치는 상승한다.
② A의 경우 미국으로 자녀를 유학 보낸 일본 학부모의 부담은 감소할 것이다.
③ B의 경우 미국 시장에서 한국산 제품의 달러 표시 가격은 상승할 것이다.
④ A와 달리 B의 경우 달러 표시 외채를 상환하려는 국내 기업의 부담은 증가할 것이다.
⑤ B와 달리 A의 경우 미국 여행을 하려는 일본 관광객의 부담은 증가할 것이다.

[정답] ④

211. 표를 보고, A, B에 알맞은 결과로만 연결한 것을 고르면?

	(A)	(B)
①	무역 마찰	경기 침체
②	대외신인도 하락	물가 상승
③	경기 침체	대외신인도 하락
④	대외신인도 하락	경기 침체
⑤	물가 상승	무역 마찰

[정답] ①

212 그림은 X재 시장에 대한 정부의 최고 가격제 실시 전후의 시장 상황을 나타낸다. 이에 대한 분석으로 옳은 것은?

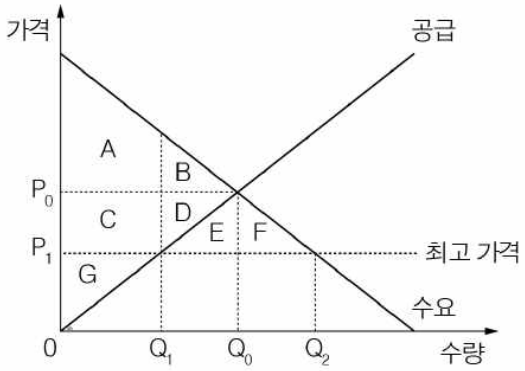

① 가격 규제 이후 Q_0Q_2 만큼 초과 수요가 발생한다.
② 가격 규제 이전 생산자 잉여는 C+G이다.
③ 가격 규제 이후 사회적 잉여는 E+F만큼 증가한다.
④ 가격 규제 이후 소비자 잉여는 A+B+C+D+E+F이다.
⑤ 가격 규제 이전 생산자 잉여에 포함된 C는 규제 이후 소비자 잉여에 포함된다.

정답 ⑤

213. 밑줄 친 ㉠으로 인해 X, Y, Z재 시장에서 나타날 변화로 옳은 것은?

X재와 Y재는 서로 보완재이고, X재와 Z재는 서로 대체재이다. 그런데 ㉠기술의 발달로 인해 X재의 생산 비용의 낮아졌다. (단, X, Y, Z재 모두 수요와 공급의 법칙을 따른다.)

① X재의 가격은 상승한다.
② Y재의 거래량은 감소한다.
③ Y재 시장의 생산자 잉여는 증가한다.
④ Z재의 판매 수입은 증가한다.
⑤ Z재 시장의 사회적 잉여는 증가한다.

정답 ③

214. 밑줄 친 현상에 대한 학생들의 설명 중 가장 적절한 것은?

A국 정부는 쌀 수확량을 30% 증가시키는 새로운 영농 기술을 개발하여 전체 농가에 보급하였다. 농민들은 이 기술의 도입으로 쌀 수확량이 늘어나 소득이 증가할 것이라고 기대하였으나, 오히려 소득이 감소하였다.

① 경준 : 쌀이 정상재이기 때문에 일어난 일이야.
② 다민 : 쌀이 생활에 필수적인 재화이기 때문이야.
③ 상길 : 쌀의 보완재 가격이 떨어져서 일어난 일이야.
④ 예훈 : 쌀은 밀접한 대체재가 많기 때문이야.
⑤ 진석 : 소비자들의 소득이 감소하지 않고서는 일어날 수 없는 일이야.

정답 ②

215. 다음 자료에 대한 분석으로 옳지 않은 것은?

X재와 Y재는 서로 대체 관계에 있다. X재는 Z재를 원료로 사용하지만 Y재는 그렇지 않다. 올해 이상 기후로 인해 Z재의 생산량이 크게 줄었지만 Z재의 생산자와 X재 생산자의 판매 수입은 오히려 늘었다.

① X재 수요는 가격에 대해 탄력적이다.
② Z재 수요는 가격에 대해 비탄력적이다.
③ X재, Z재와 달리 Y재 거래량은 증가한다.
④ X재, Y재, Z재 시장 모두 가격이 상승한다.
⑤ X재 가격이 상승하면 Y재 수요는 증가한다.

정답 ①

216. 수요의 가격 탄력성에 대한 일반적 진술로 옳은 것은?
① 대체할 수 있는 재화가 많을수록 비탄력적이다.
② 생활에 반드시 필요한 재화일수록 탄력적이다.
③ 소비 선택에 주어진 기간이 장기일수록 탄력적이다.
④ 상품의 소비 지출이 소득에서 차지하는 비중이 클수록 비탄력적이다.
⑤ 사치품의 경우 비탄력적이다.

정답 ③

217. 공급의 가격 탄력성에 대한 일반적 진술로서 옳은 것은? [삭제하기]
① 공산품은 생산에 걸리는 시간이 상대적으로 짧아 비탄력적이다.
② 공급에 주어진 기간이 길어서, 기업이 공장을 새로 짓거나 폐쇄하는 등 비교적 쉽게 공급량을 조절할 수 있다면 비탄력적이다.
③ 생산 설비의 규모가 크면 비탄력적이다.
④ 거대한 자본 설비가 요구되면 탄력적이다.
⑤ 생산에 쓰이는 생산 요소를 쉽게 대체할 수 있으면 비탄력적이다.

정답 ③

218. 표는 뮤지컬 공연의 관람권에 대한 수요 및 공급을 보여준다. 이에 대한 설명으로 옳지 않은 것은?

관람권 가격(만 원)	수요량(백 개)	공급량(백 개)
1	10	5
2	8	5
3	6	5
4	5	5
5	4	5

(단, 뮤지컬 공연과 연극공연은 대체재 관계)

① 관람권의 공급 곡선은 수직선이다.
② 관람권의 균형 가격은 4만 원이다.
③ 관람권 가격이 낮게 책정될수록 거래량은 증가한다.
④ 시설을 확장하여 좌석 수를 1백 개 더 늘리면 관람권의 균형 가격을 3만 원이 된다.
⑤ 연극 공연 관람권의 가격이 하락하면 뮤지컬 공연 관람권의 균형 가격은 4만 원 이하에서 형성된다.

정답 ③

219. 표는 어떤 가구의 월 소득 변화를 나타낸 것이다. 이에 대한 설명으로 옳은 것은? (단, 이 가구는 제시된 것 이외의 소득은 없다.)

(단위 : 만 원)

구분	2017년 1월	2017년 2월
회사 급여	200	190
기초 연금	20	20
복권 당첨금	0	10
합계	220	220

① 사업 소득은 감소했다.
② 근로 소득은 증가했다.
③ 경상 소득은 감소했다.
④ 이전 소득은 감소했다.
⑤ 비경상 소득은 변동이 없다.

정답 ③

220. 다음 자료에 대한 분석으로 옳은 것은? (2017. 10월 학평)

공급자 세 명, 수요자 세 명으로 구성된 X재 시장이 있다. 공급자가 X재를 판매하면서 받고자 하는 최소 금액, 수요자가 X재를 구입하기 위해 지불하고자 하는 최대 금액은 표와 같다. 단, 모든 주체의 수요량 또는 공급량은 1인당 하나씩이다.

공급자	받고자 하는 최소 금액	수요자	지불하고자 하는 최대 금액
갑	4,500원	A	5,000원
을	3,500원	B	4,000원
병	2,500원	C	3,000원

① 가격이 4,000원이면 공급량은 3개이다.
② 가격이 3,000원이면 초과 공급이 발생한다.
③ 가격이 2,500원이면 초과 수요량은 3개이다.
④ 가격이 3,500원일 때와 4,000원일 때의 사회적 잉여는 같다.
⑤ 가격이 3,500원일 때 소비자 잉여는 생산자 잉여의 1.5배이다.

정답 ④

가격이 3,500원일 때 생산자 잉여는 1,000원, 소비자 잉여는 2,000원이다. 가격이 4,000원일 때 생산자 잉여는 2,000원, 소비자 잉여는 1,000원이다

221. 그림은 t기 이전에 최고 가격이 설정된 X재의 공급 변동을 나타낸 것이다. 이에 대한 분석으로 옳은 것은? (2017. 10월 학평)

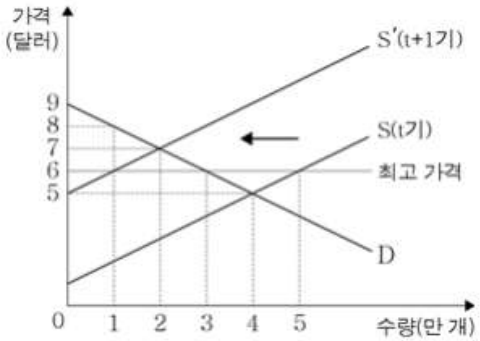

① t기에는 2만 개의 초과 공급이 발생한다.
② t+1기에 가격 규제를 철폐한다면 소비자 잉여는 증가한다.
③ t기에는 t+1기와 달리 가격 규제의 실효성이 있다.
④ t+1기에 가격은 t기에 비해 2달러 상승한다.
⑤ t+1기에 거래량은 t기에 비해 3만 개 감소한다.

정답 ⑤

t기에는 최고 가격이 균형 가격보다 높아 실효성이 없으나, t+1기에는 최고 가격이 균형 가격보다 낮아 실효성이 있다. t기에는 균형점에서, t+1기에는 최고 가격선과 공급 곡선이 만나는 점에서 거래가 이루어진다.

[오답 피하기]

② t+1기에서 가격 규제를 철폐하면 소비자 잉여는 2만 5천 달러에서 2만 달러로 감소한다.

222. 밑줄 친 ㉠, ㉡에 대한 설명으로 옳은 것은? (2018 수능)

그림은 갑국의 X 재 시장 상황을 나타낸다. 최근 ㉠X재 수요 곡선이 D에서 D′로 이동하였다. 이에 정부는 ㉡X재가 P_1 보다 높은 가격에서 거래될 수 없도록 규제하려고 한다.

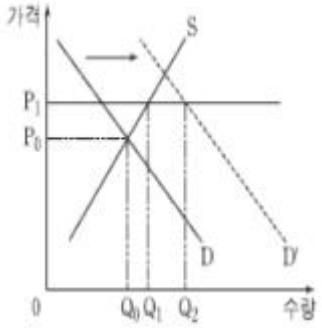

① X 재의 대체재 가격 하락은 ㉠의 요인이 될 수 있다.
② ㉡은 시장 가격 하락을 억제하기 위한 것이다.
③ ㉠, ㉡의 결과 Q_1Q_2의 초과 수요가 발생할 것이다.
④ ㉠에도 불구하고 ㉡으로 인해 거래량은 Q 에서 증가하지 않을 것이다.
⑤ ㉡ 시행 후 수요 곡선이 D′에서 D로 되돌아오면 시장 가격은 P_1일 것이다.

정답 ③

수요 증가로 X 재의 균형 가격은 상승했다. 이후 최고 가격 정책의 실시로 인해 P_1 가격 수준에서 공급량은 Q_1, 수요량은 Q_2 되어 시장에서 Q_1Q_2만큼의 초과 수요가 발생하게 된다.

[오답 피하기]

① 대체재 가격이 하락하면 X 재 수요는 감소한다.
② 최고 가격 정책의 목적은 비정상적으로 높은 가격을 억제하기 위한 것이다.
④ 최고 가격 정책의 실시로 거래량은 Q_1이 된다.
⑤ 수요 곡선이 D′에서 D 로 되돌아오면 시장 가격은 균형 가격인 P 가 된다. 이 경우 균형 가격이 최고 가격보다 낮은 수준이므로 최고 가격은 실효성이 없어진다.

223. 그림은 A재화의 가격 변화율에 따른 갑~병의 소비 지출액 변화율을 나타낸다. 이에 대한 옳은 분석을 <보기>에서 고른 것은? (2015. 9월 모평)

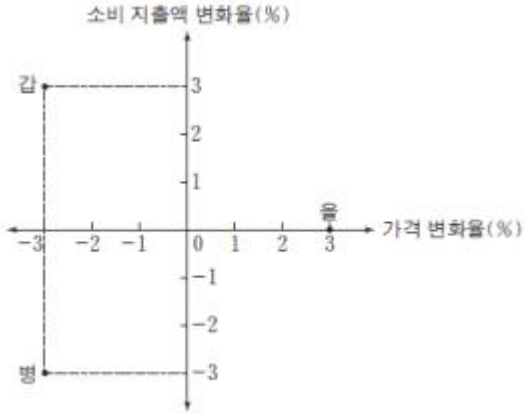

< >

ㄱ. 갑의 수요는 가격에 대해 탄력적이다.
ㄴ. 을의 수요는 가격에 대해 완전 비탄력적이다.
ㄷ. 가격이 하락해도 병의 구매량은 변하지 않는다.
ㄹ. 병의 수요는 갑의 수요보다 가격에 대해 더 탄력적이다.

① ㄱ, ㄴ ② ㄱ, ㄷ ③ ㄴ, ㄷ ④ ㄴ, ㄹ ⑤ ㄷ, ㄹ

정답 ②

갑은 가격 인하에도 소비 지출액이 증가했으므로 수요가 가격에 대해 탄력적이다. 을은 가격인상에도 소비 지출액의 변화가 없으므로 수요가 가격에 대해 단위 탄력적이다. 병은 가격의 하락률만큼 소비 지출액이 감소했으므로 수요가 가격에 대해 완전 비탄력적이다.

224.다음 자료의 X재와 Y재 수요의 가격 탄력성으로 옳은 것은? (2015. 10월 학평)

○○기업은 X재와 Y재를 독점 생산한다. ○○기업은 매출액을 늘리기 위해 X재와 Y재의 가격을 조정하였다. 그 결과 나타난 X재와 Y재의 판매량과 매출액의 변화율은 그림과 같다. 단, X재와 Y재 모두 수요 법칙을 따른다

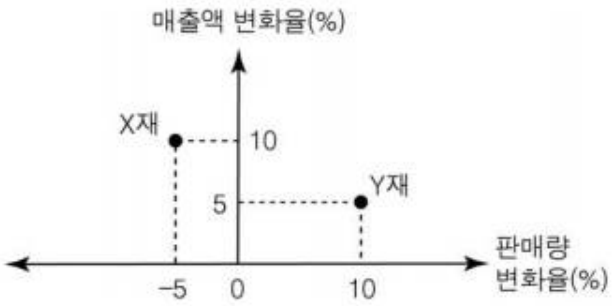

	X재	Y재
①	탄력적	비탄력적
②	탄력적	단위 탄력적
③	비탄력적	탄력적
④	비탄력적	단위 탄력적

정답 ③

X재 판매량 감소, Y재 판매량 증가를 통해 X재 가격은 인상, Y재 가격은 인하하였음을 알 수 있다. 그리고 X재 매출액 증가, Y재 매출액 증가를 통해 수요의 가격 탄력성은 X재는 1보다 작고, Y재는 1보다 큼을 알 수 있다.

225. 다음 자료에 대한 옳은 분석을 <보기>에서 고른 것은? (2015. 7월 학평)

표는 X재, Y재, Z재의 가격이 현재 수준에서 5% 상승할 경우의 수요량 변화율과 판매 수입 변화율을 나타낸다.

구분	수요량 변화율	판매 수입 변화율
X재	0%	㉠
Y재	−5%	㉡
Z재	−10%	㉢

< >

ㄱ. ㉠은 5%이다.
ㄴ. ㉡은 0%이다.
ㄷ. ㉢은 10%이다.
ㄹ. 수요의 가격 탄력성은 X재가 가장 크다.

① ㄱ, ㄴ ② ㄱ, ㄷ ③ ㄴ, ㄷ ④ ㄴ, ㄹ ⑤ ㄷ, ㄹ

정답 ①

수요의 가격 탄력성은 X재 완전 비탄력적, Y재 단위 탄력적, Z재 탄력적이다.

ㄷ, ㄹ. 탄력적인 재화는 가격이 상승하면 판매 수입은 감소하며, 수요의 가격 탄력성은 Z재가 가장 크다

226. 다음 자료에 대한 분석으로 옳은 것은? (2016. 4월 학평)

X재를 독점 생산하는 A 기업은 X재 가격 10% 인상을 고려하고 있다. 표는 A 기업의 사원 갑 ~ 정이 예상한 X재 가격 인상에 따른 판매 수입의 변화율을 나타낸다.

구분	갑	을	병	정
판매 수입 변화율(%)	0	10	−10	5

① 갑은 X재의 수요가 가격에 대해 완전 비탄력적이라고 본다.
② 을은 가격 인상 후 X재 수요량의 변화가 없을 것으로 본다.
③ 병은 X재의 가격 상승률과 수요량 감소율이 같다고 본다.
④ 정은 X재의 수요가 가격에 대해 탄력적이라고 본다.
⑤ X재 수요의 가격 탄력성을 가장 크게 예상한 사람은 을이다.

정답 ②

② 가격을 10% 인상했을 때 X재 수요의 가격 탄력성(Ed)을 갑은 Ed = 1(단위 탄력적), 을은 Ed = 0(완전 비탄력적), 병은 Ed > 1(탄력적), 정은 0 < Ed < 1(비탄력적)으로 예상하고 있다.

227. 그림은 X재 시장 균형의 변화를 나타낸다. 이에 대한 설명으로 옳은 것은? (2016. 6월 모평)

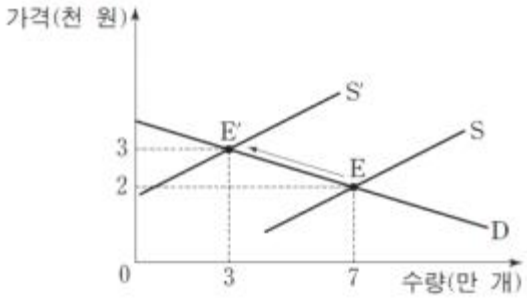

① 공급이 증가했다.
② 소비자 잉여가 감소했다.
③ 수요는 가격에 대해 비탄력적이다.
④ 수요가 증가하여 가격이 상승했다.
⑤ 소비자의 소득 감소가 변화의 원인이다.

정답 ②

① 공급이 감소하였다.
② 가격이 상승하고 판매량의 감소로 소비자 잉여는 감소하게 된다.
③ E에서 E'으로 이동하면서 수요의 가격 탄력성은 8/7로 탄력적이다.
④ 공급의 감소로 가격이 상승하고 수요량이 감소한 것이다.
⑤ 소비자의 소득이 감소하게 되면 수요가 감소한다.

228. 그림은 가격 변화에 따른 A재의 판매 수입 변화율과 B재의 수요량의 변화율을 나타낸다. 이에 대한 분석으로 옳은 것은? (2016. 7월 학평)



① 2014년의 A재는 수요의 가격 탄력성이 1보다 크다.
② 2014년의 B재는 수요의 가격 탄력성이 완전 탄력적이다.
③ 2015년의 B재는 가격 변화 후에도 판매 수입의 변화가 없다.
④ 2015년은 A, B재 모두 수요의 가격 탄력성이 단위 탄력적이다.
⑤ 2014년의 A재보다 2015년의 B재 수요의 가격 탄력성이 더 작다.

정답 ③

구분	수요의 가격 탄력성	
	A재	B재
2014년	비탄력적	완전 비탄력적
2015년	탄력적	단위 탄력적

③ 단위 탄력적인 재화는 가격이 변화해도 판매수입의 변화가 없다.

229. 그림은 갑국 사탕수수 시장의 공급 곡선과 연구자에 따라 (가) 또는 (나)로 추정된 수요 곡선을 나타낸다. 이에 대한 옳은 추론을 <보기>에서 고른 것은? (2017. 수능)

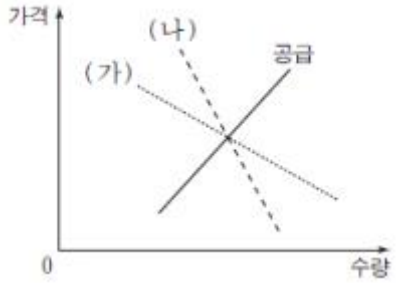

< >

ㄱ. 사탕수수 재배 기술이 발달하면 균형 거래량은 (가)보다 (나)에서 더 많이 증가할 것이다.
ㄴ. 사탕수수 농사가 풍년이 되면 균형 가격은 (나)보다 (가)에서 더 많이 하락할 것이다.
ㄷ. 사탕수수 생산자에게 단위당 동일한 세금을 부과하면 조세 수입은 (가)보다 (나)에서 더 많을 것이다.
ㄹ. 기상 이변으로 사탕수수 재배 면적이 감소하면 판매 수입은 (나)보다 (가)에서 더 적을 것이다.

① ㄱ, ㄴ ② ㄱ, ㄷ ③ ㄴ, ㄷ ④ ㄴ, ㄹ ⑤ ㄷ, ㄹ

정답 ⑤

(가), (나)는 가격 탄력도가 서로 다른 수요 곡선이다.
ㄷ, ㄹ. 공급이 감소되면 (나)의 시장 가격과 균형 거래량이 (가)보다 모두 크다. 따라서 조세 수입, 판매 수입 모두 (가)보다 (나)에서 더 많다.

[오답 피하기]

ㄱ, ㄴ. 공급이 증가하며 (가)의 시장 가격과 균형 거래량이 (나)보다 모두 크다.

229. 그림은 X재의 가격 변화율에 따른 수요자 갑 ~ 정의 지출액 변화율을 나타낸다. 이에 대한 옳은 분석을 <보기>에서 고른 것은? (2017. 7월 학평)

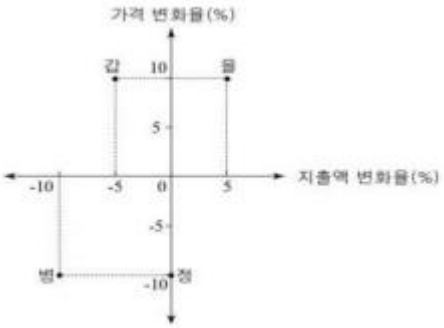

< >

ㄱ. 수요의 가격 탄력성은 갑이 가장 크다.
ㄴ. 을의 수요는 가격에 대해 비탄력적이다.
ㄷ. 병의 경우 가격 하락률과 수요량 증가율은 같다.
ㄹ. 정의 수요는 가격에 대해 완전 비탄력적이다.

① ㄱ, ㄴ ② ㄱ, ㄷ
③ ㄴ, ㄷ ④ ㄴ, ㄹ

정답 ①

수요의 가격 탄력성은 갑은 탄력적, 을은 비탄력적, 병은 완전 비탄력적, 정은 단위 탄력적이다.
ㄷ. 병의 경우 X재 가격이 변화해도 수요량은 변하지 않는다.

230. 표는 A~D재의 생산 요소 가격 변동으로 인한 판매량과 판매수입의 변화율을 나타낸다. 이에 대한 설명으로 옳은 것은? (단, A~D재는 모두 수요 및 공급 법칙을 따른다.) (2017. 9월 모평)

(단위 : %)

구분	A재	B재	C재	D재
판매량 변화율	−10	−10	10	10
판매 수입 변화율	10	−7	5	−3

① A재는 공급이 증가하였다.
② B재는 가격이 하락하였다.
③ C재의 생산 요소 가격은 하락하였다.
④ D재의 수요는 가격에 대해 탄력적이다.
⑤ B재와 C재의 수요는 가격에 대해 비탄력적이다.

231. 그림은 X재 시장에 대한 정부의 최고 가격제 실시 전후 시장 상황을 나타낸다. 이에 대한 옳은 분석을 <보기>에서 고른 것은?

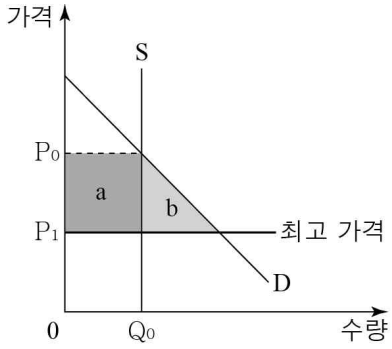

<보 기>

ㄱ. 가격 규제 전후 사회적 잉여는 동일하다.
ㄴ. 가격 규제 이후 초과 수요는 발생하지 않는다.
ㄷ. 가격 규제 이후 생산자 잉여는 a만큼 감소한다.
ㄹ. 가격 규제 이후 소비자 잉여는 a+b만큼 증가한다.

① ㄱ, ㄴ ② ㄱ, ㄷ ③ ㄴ, ㄷ ④ ㄴ, ㄹ

정답 ②

ㄴ. 최고 가격제 시행 이후 초과 수요가 발생한다.
ㄹ. 최고 가격제 시행 이후 소비자 잉여는 a만큼 증가한다.

232. 표에 대한 옳은 분석을 <보기>에서 고른 것은? (단, 갑국은 X재와 Y재만 생산하며, 두 재화는 모두 최종 생산물이다. 기준 연도는 2015년이다.)

(단위: 달러, 만 개)

구분	2015년		2016년	
	가격	생산량	가격	생산량
X재	50	8	60	10
Y재	100	12	120	10
인구(명)	100		90	

<보 기>

ㄱ. 2016년의 GDP 디플레이터는 120이다.
ㄴ. 2016년 경제 성장률은 양(+)의 값이다.
ㄷ. 명목 GDP는 2015년에 비해 2016년에 증가하였다.
ㄹ. 1인당 실질 GDP는 2015년에 비해 2016년에 감소하였다.

① ㄱ, ㄴ ② ㄱ, ㄷ ③ ㄴ, ㄷ ④ ㄴ, ㄹ

정답 ②

(단위: 만 달러)

구분	2015년	2016년
명목 GDP	1,600	1,800
실질 GDP	1,600	1,500
1인당 실질 GDP	16	약 16.7

ㄴ. 2016년의 경제 성장률은 음(-)의 값이다.
ㄹ. 1인당 실질 GDP는 2015년에 비해 2016년에 증가하였다.

233. 그래프는 X재의 균형 가격과 거래량을 나타낸 것이다. 이에 대한 분석으로 옳지 않은 것은? (2014.4월 학평)

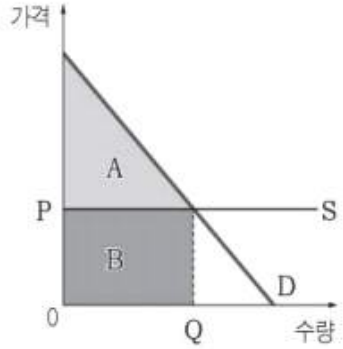

① 균형 가격 P에서 소비자 잉여는 A이다.
② 균형 가격 P에서 생산자 잉여는 B이다.
③ X재는 가격 P에서 무제한 공급이 가능하다.
④ X재에 대한 수요가 증가하더라도 균형 가격은 P이다.
⑤ 정부가 X재에 대해 세금을 부과하면 거래량이 감소한다.

정답 ②

A는 소비자의 최대 지불 금액과 균형 가격의 차이 므로 소비자 잉여이다. 생산자가 받고자 하는 최소 금액과 균형 가격 간의 차이가 없으므로 생산자 잉여는 0이다. 공급이 완전 탄력적이므로 수요가 증가하더라도 균형 가격의 변화는 없다.

234. 밑줄 친 ㉠으로 인해 나타날 변화에 대한 분석으로 옳지 않은 것은? (2017. 4월 학평)

그림은 갑국의 X재 시장을 나타낸다. ㉠갑국 정부는 생산자들에게 개당 20원의 생산 보조금을 지급하고자 한다.

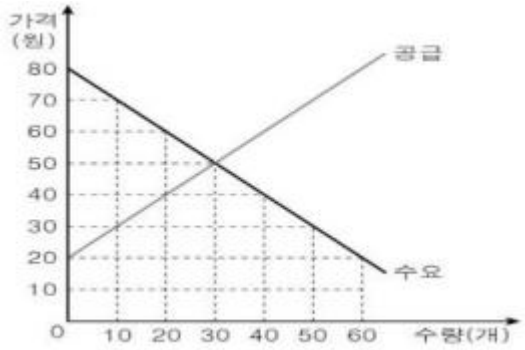

① 균형 가격은 20원 하락한다.
② 균형 거래량은 10개 증가한다.
③ 소비 지출액은 100원 증가한다.
④ 소비자 잉여는 350원 증가한다.
⑤ 모든 가격 수준에서 수요량의 변화는 없다.

정답 ①

갑국 정부가 X재 생산자들에게 개당 20원의 생산 보조금을 지급하면, 공급이 증가한다.

① 균형 가격은 10원 하락한다

235. 표에 대한 분석으로 옳은 것은?(단, 물가 수준은 GDP 디플레이터로 측정한다.) (2015. 6월 모평)

〈갑국의 명목 GDP와 실질 GDP〉

(기준 연도: 2010년, 단위: 억 달러)

구분	2012년	2013년	2014년
명목 GDP	100	100	100
실질 GDP	100	110	120

① 갑국의 물가 수준은 지속적으로 높아지고 있다.
② 갑국의 생산 수준은 지속적으로 높아지고 있다.
③ 기준 연도 가격으로 계산한 GDP는 매년 일정하다.
④ 2014년의 경제 성장률과 물가 상승률은 동일하다.
⑤ 2013년과 2014년의 경제 성장률은 동일하다.

정답 ②

구분	2012	2013	2014
명목GDP	100	100	100
실질GDP	100	110	120
GDP디플레이터	100	90.9	83.3

실질GDP가 지속적으로 증가하고 있으므로 생산수준은 높아지고 있다.

[오답 피하기]

① GDP디플레이터 값이 감소하므로 물가수준은 하락하고 있다.
③ 기준 연도 가격으로 계산한 GDP는 실질GDP이다.
④ 2014년의 경제성장률은 10/110*100(%)로 양의 값이고, 물가상승률은 음의 값이므로 동일하지 않다.
⑤ 2013년의 경제성장률은 10/100*100(%)로 2014년보다 크다.

236. 표는 갑국의 2012년~2014년 X재, Y재의 가격 및 생산량을 나타낸다. 이에 대한 분석으로 옳지 않은 것은? (단, 갑국은 X재와 Y재만 생산하며, 두 재화는 모두 최종 생산물이다. 기준 연도는 2012년이다.) (2015. 9월 모평)

구분	X재		Y재	
	가격	생산량	가격	생산량
2012년	100원	10개	10원	100개
2013년	150원	10개	10원	150개
2014년	300원	10개	10원	300개

① 2012년 실질 GDP는 2,000원이다.
② 2013년 명목 GDP는 3,000원이다.
③ 2014년 명목 GDP는 6,000원이다.
④ 2014년 경제 성장률은 100%이다.
⑤ 2014년 실질 GDP는 2013년 실질 GDP보다 크다

정답 ④

④ 2013년의 실질 GDP는 2,500원, 2014년의 실질 GDP는 4,500원이다. 그러므로 2014년 경제 성장률은 100%에 미치지 못한다.

237. 표는 갑국의 경제 지표를 나타낸다. 이에 대한 분석으로 옳은 것은? (단, 물가 지수는 GDP 디플레이터로 측정한다.) (2016. 7월 학평)

구분	2013년	2014년	2015년
명목 GDP(만 달러)	100	110	120
GDP 디플레이터	100	100	120

① 2013년 이후 실질 GDP는 변함이 없다.
② 2014년의 물가는 전년 대비 10% 상승하였다.
③ 2014년의 전년 대비 실질 GDP 증가율과 명목 GDP 증가율은 동일하다.
④ 2015년의 경제 규모가 가장 크다.
⑤ 2015년은 2014년에 비해 경제 성장률이 더 높다.

정답 ③

구분	2013년	2014년	2015년
실질 GDP(만 달러)	100	110	100

③ 2014년의 실질 GDP 증가율과 명목 GDP 증가율은 10%로 동일하다.

[오답 피하기]
② 2014년의 물가는 전년과 동일하다.
④ 경제 규모는 2014년에 가장 크다.
⑤ 2015년은 전년에 비해 실질 GDP가 감소하였으므로 경제 성장률은 음(-)의 값을 갖는다.

238. 표는 갑국의 항목별 경상 수지를 나타낸다. 이에 대한 분석 및 추론으로 옳은 것은? (단, 자본 수지와 오차 및 누락은 0이다.) (2016. 4월 학평)

(단위: 억 달러)

구분	2013년	2014년	2015년
계	25	0	-25
상품 수지	10	20	30
서비스 수지	-5	-20	-30
본원 소득 수지	15	10	-30
이전 소득 수지	5	-10	5

① 2013년의 경상 수지는 갑국화폐/달러 환율의 하락 요인이다.
② 2014년에 저작권 사용료가 포함되는 항목은 흑자를 기록하였다.
③ 2015년은 본원 소득보다 이전 소득으로 인한 외화 유입액이 더 많았다.
④ 2013년과 달리 2015년은 금융 계정에서 외화 유출액이 유입액보다 많았다.
⑤ 상품 수출입 규모는 매년 증가하고 있다.

정답 ①
① 2013년의 경상 수지는 흑자이므로 외화의 공급이 증가하여 갑국화폐/달러 환율의 하락 요인이 된다.

[오답 피하기]
② 저작권 사용료가 포함되는 항목은 서비스 수지이며, 2014년 서비스 수지는 적자를 기록하였다.
③ 국제 수지는 외화 유입액과 유출액의 차이를 나타낸 것이므로 2015년의 본원 소득과 이전 소득으로 인한 외화 유입액은 표를 통해서는 알 수 없다.
④ 자본 수지와 오차 및 누락이 0이므로, 경상 수지가 25억 달러 흑자인 2013년과 달리 경상 수지가 25억 달러 적자인 2015년은 금융 계정에서 외화 유입액이 유출액보다 많았다.
⑤ 갑국의 상품 수출입 규모는 표를 통해서는 알 수 없다.

239. 다음은 우리나라 ○○기업의 국제 거래 내역이다. (가)~(다)가 반영되는 경상 수지 항목으로 옳은 것은? (2017. 3월 학평)

(가) 스마트폰을 1억 달러어치 수출하였다. (나) 외국인 주주들에게 배당금 100만 달러를 지급하였다. (다) 외국 기업에게 특허권 사용료 200만 달러를 지급하였다.

	(가)	(나)	(다)
①	상품 수지	본원 소득 수지	서비스 수지
②	상품 수지	본원 소득 수지	이전 소득 수지
③	서비스 수지	상품 수지 이전	소득 수지
④	서비스 수지	상품 수지	본원 소득 수지

정답 ①

재화 수출액은 상품 수지, 주식 배당금은 본원 소득 수지, 특허권 사용료는 서비스 수지에 반영된다.

240. 표는 갑국의 경상 수지 변화를 나타낸 것이다. 이에 대한 분석으로 옳은 것은? (2017. 10월 학평)

(단위:억 달러)

구분	2015년	2016년
상품 수지	90	110
서비스 수지	−20	−10
본원 소득 수지	−40	−50
이전 소득 수지	20	10

① 수출액은 증가하였다.
② 경상 수지의 흑자 폭이 작아졌다.
③ 배당, 이자가 포함된 항목은 적자 폭이 커졌다.
④ 대가 없이 이루어진 거래의 수지는 개선되었다.
⑤ 지식 재산권 사용료가 포함된 항목은 적자 폭이 커졌다.

240. 정답 ③

배당과 이자는 투자 소득을 구성하는 요소이고 경상 수지 중 본원 소득 수지에 해당한다.

241. 표는 갑국의 2016년 경상 수지를 나타낸다. 이에 대한 분석으로 옳은 것은? (2018 수능)

(단위: 억 달러)

경상 수지			
상품 수지	서비스 수지	본원 소득 수지	이전 소득 수지
120	-20	10	-35

① 재화의 수출액은 전년 대비 120억 달러 증가하였다.
② 해외 투자에 따른 배당금을 기록하는 항목은 적자이다.
③ 서비스 거래에 따른 외화 유출액이 유입액보다 많았다.
④ 해외에 제공한 공적 개발 원조액을 기록하는 항목은 흑자이다.
⑤ 경상 수지는 달러화 대비 갑국 통화 환율의 상승 요인이다.

정답 ③

③ 서비스 수지가 적자이므로 서비스 거래에 따른 외화 유출액이 유입액보다 많았다.

[오답 피하기]

① 재화의 수출액 증감 여부는 알 수 없다.
② 해외 투자에 따른 배당금을 기록하는 항목인 본원 소득 수지는 흑자이다.
④ 해외에 제공한 공적 개발 원조액을 기록하는 항목인 이전 소득 수지는 적자이다.
⑤ 경상 수지는 흑자이며 이는 달러화 대비 갑국 통화 환율의 하락 요인이다.