---- 공무원 사회 경제 지문정리 ----

제공 해커스 공무원 하종화 강사

!

제1단원 경제 생활과 경제 문제의 이해

경제 주체

※ 다음 물음에 맞으면 O, 틀리면 X를 하시오.(1～13)

경제 주체	(㉠)	기업	(㉡)
목적	효용 극대화	(㉢)	사회적 후생 극대화
특징	(㉣)	(㉤)	(㉥)

1. ㉠에는 가계가 들어간다. (　　)
2. ㉠은 생산 요소 시장에서 수요자이다. (　　)
3. ㉡은 석유 파동 이후 중요성이 증가하였다. (　　)
4. ㉡은 ㉠과 기업의 경제 활동을 조정 및 규제할 수 있다. (　　)
5. ㉢에서 총비용은 고려되지 않는다. (　　)
6. ㉢이 증가하기 위해서는 편익을 증가시켜야 한다. (　　)
7. ㉣에는 '생산 활동의 주체로서 부가 가치를 창출한다.'가 들어갈 수 있다. (　　)
8. ㉣에는 '노동, 토지 등을 제공하고 이에 대한 대가로 임금이나 지대를 얻는다.'가 들어갈 수 있다. (　　)
9. ㉤에는 '생산 요소의 공급자'가 들어갈 수 있다. (　　)
10. ㉤에는 '생산물 시장에서 재화와 서비스를 공급한다.'가 들어갈 수 있다. (　　)
11. ㉤에는 '공공재 및 공공 서비스를 제공한다.'가 들어갈 수 있다. (　　)
12. ㉥에는 '생산 활동과 소비 활동을 모두 수행한다.'가 들어갈 수 있다. (　　)
13. ㉥에는 '금융 정책의 주체'가 들어갈 수 있다. (　　)

▶ 정답 및 해설

1. O
2. X – 가계는 생산 요소 시장의 공급자
3. X – 경제 대공황 이후 정부의 중요성이 증가함
4. O
5. X – 총이윤은 총수입에서 총비용을 뺀 값이므로 총비용이 고려됨
6. X – 편익이 아니라 총수입을 증가시켜야 함
7. X – 부가가치 창출은 기업의 특징
8. O
9. X – 생산 요소의 수요자
10. O
11. X – 공공재 및 공공서비스는 정부가 제공
12. O
13. X – 재정 정책의 주체가 됨. 금융 정책의 주체는 중앙 은행

경제 흐름

※ 다음은 민간 경제의 흐름이다. 옳은 것은 O, 옳지 않은 것은 X를 하시오. (1~5)

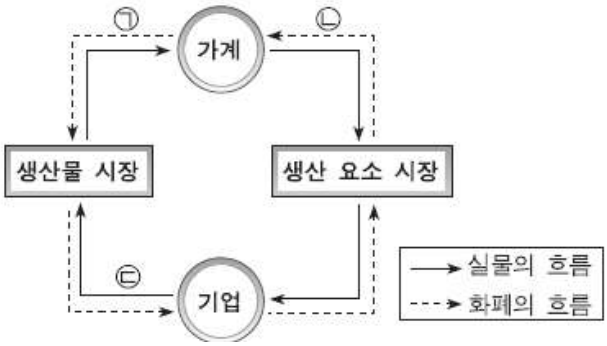

1. ㉠은 만족감을 얻기 위한 지출이다. (　　)
2. ㉡은 기업이 생산을 위해 필요한 요소를 사용한 댓가로 지급하는 것이다. (　　)
3. ㉡은 세금에 해당한다. (　　)
4. ㉢에는 재화가 포함되지만, 재화의 저장, 운송, 판매 등의 활동은 포함되지 않는다. (　　)
5. ㉠은 요소 소득이고, ㉡은 소비 지출이다. (　　)

※ 그림은 국민 경제의 흐름이다. 옳은 것은 O, 옳지 않은 것은 X를 하시오. (6~14)

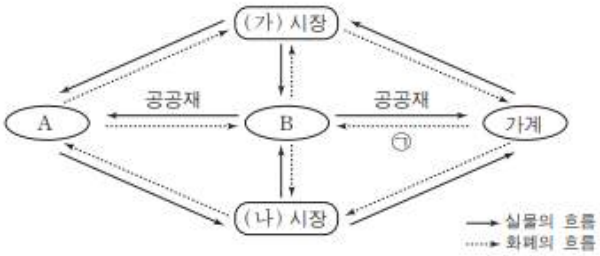

6. A는 생산물 시장의 공급자이다. (　　)
7. A는 효용의 극대화를 목적으로 경제 활동을 한다. (　　)
8. B는 공공재를 제공하고 이에 대한 대가로 세금을 받는다. (　　)
9. B는 이윤 극대화를 목표로 경제 활동을 한다. (　　)
10. A, B는 민간 경제의 주체이다. (　　)
11. (가)는 생산물, (나)는 생산 요소에 해당한다. (　　)
12. (가)에서는 노동, 토지, 자본 등이 거래되고, (나)에서는 임금, 지대, 이자 등이 거래된다. (　　)
13. (가) 시장의 거래가 확대되면 (나) 시장의 거래도 확대된다. (　　)
14. ㉠의 크기가 커지면 가계의 처분 가능 소득은 증가한다. (　　)

▶ 정답 및 해설

1. O
2. O
3. X – 세금은 요소 소득에 포함되지 않음
4. X – 재화 뿐만 아니라 재화의 저장, 운송, 판매 등의 서비스도 포함됨
5. X – ㉠은 소비 지출이고, ㉡은 요소 소득
6. O – A는 기업으로 생산물 시장의 공급자에 해당
7. X – 이윤의 극대화
8. X – 세금은 반대 급부 업이 일방적으로 부가하는 것
9. X – 정부는 사회적 후생의 극대화를 목적으로 경제 활동을 함
10. X – 국민 경제의 주체이며, 정부는 민간 경제의 주체가 아님
11. X – (가)는 생산요소 시장이고 (나)는 생산물 시장
12. X – (가)에서 노동, 토지, 자본 및 임금, 지대, 이자 등이 모두 거래됨
13. O
14. X – 세금의 크기가 커지면 처분 가능 소득은 감소함

재화의 종류

※ 그림을 보고 A~D재에 대한 설명으로 옳은 것은 O, 옳지 않은 것은 X를 하시오. (1~10)

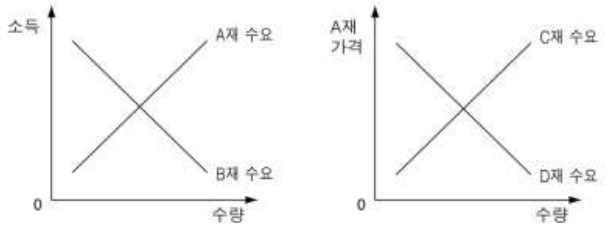

1. 소득에 따른 재화를 분류할 때 A재를 정상재, B재를 열등재라고 한다. (　　)
2. 동일한 재화가 A재에서 B재로 변하기도 한다. (　　)
3. A재의 예로는 연탄, 검정 고무신 등을 들 수 있다. (　　)
4. A재와 C재는 '꿩 대신 닭'이라는 관계가 성립한다. (　　)
5. A재의 가격이 상승할수록 C재의 수요가 증가하여 C재의 가격과 거래량도 증가한다. (　　)
6. A재와 C재의 관계에 해당하는 예로는 삼겹살과 상추가 있다. (　　)
7. A재와 D재의 수요는 같은 방향으로 움직인다. (　　)
8. C재와 D재는 대체 관계에 있다. (　　)
9. C재의 가격 상승은 A재의 수요 증가 요인이지만, D재의 가격 상승은 A재의 수요 감소 요인이다. (　　)
10. A재와 C재는 함께 사용함으로써 만족감이 더 커질 수 있는 관계에 있는 재화 관계에 있다. (　　)

11. 재화는 사용 목적에 따라 생산재와 소비재로 분류할 수 있다. (　　)
12. 재화는 희소성 여부에 따라 공공재와 사유재로 분류할 수 있다. (　　)
13. 제과점에서 빵을 만들기 위해 밀가루를 소비할 경우 이러한 밀가루는 생산재이지만, 가정집에서 전을 만들기 위해 밀가루를 소비할 경우 이러한 밀가루는 소비재에 해당한다. (　　)
14. 배제성과 경합성이 없는 재화를 자유재라고 한다. (　　)
15. 컴퓨터와 소금은 독립재 관계이다. (　　)

▶ 정답 및 해설

1. O
2. O
3. X – B재인 열등재의 예
4. O – 대체재 관계
5. O
6. X – 삽겹살과 상추는 보완재 관계
7. O – A재의 가격이 상승하여 A재의 수요량이 감소하면 보완재인 D재의 수요도 감소함. 즉 가격이 아닌 수요의 관계는 같은 방향
8. X – 어떠한 관계인지 모름
9. O
10. X – A재와 D재의 관계에 대한 설명
11. O
12. X – 자유재와 경제재로 분류
13. O
14. X – 공공재
15. O

재화의 희소성

※ 그림을 보고 (가)와 (나)에 대한 설명으로 옳은 것은 O, 옳지 않은 것은 X를 하시오. (1~15)

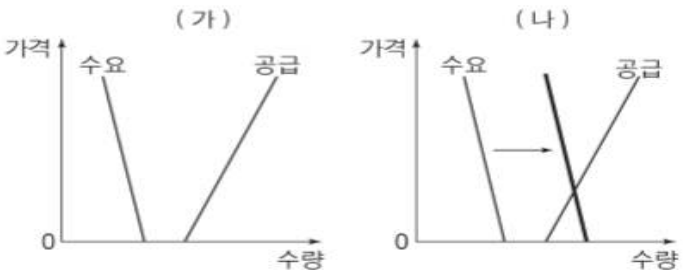

1. (가)는 대가를 지급하지 않아도 소비할 수 있는 재화이다. (　　)
2. (가)는 경제재, (나)는 자유재이다. (　　)
3. (가)는 사용해도 만족을 느낄 수 없는 재화를 나타낸다. (　　)
4. (가)는 사용가치는 있으나, 교환가치는 없는 재화이다. (　　)
5. (가)는 판매 가격이 너무 높아서 소비가 이루어지지 않는 경우를 나타낸다. (　　)
6. (가)의 예로는 공기, 햇빛, 바닷물 등이 있다. (　　)
7. (가)의 예로는 고가의 우주 여행이나 신약 등을 들 수 있다. (　　)
8. (가)였던 재화가 수요가 증가하거나 공급이 증가하면 (나)로 변화하기도 한다. (　　)
9. (나)는 희소성이 있는 재화로 변화된 것을 나타낸다. (　　)
10. (가)와 달리 (나)는 시장에서 거래되는 재화이다. (　　)
11. (가)로 인해 경제 문제(선택의 문제)에 직면하게 된다. (　　)
12. (나)는 자원의 절대적인 양이 적은 상태로 변한 것이다. (　　)
13. (나)는 희소성이 있는 재화를 의미하며, 희소성이 커질수록 일반적으로 시장 가격은 상승한다. (　　)
14. (가)의 사용가치보다 (나)의 사용가치가 더 높다. (　　)
15. 석유가 새로운 기술의 발전으로 인하여 그 수요가 증가하여 효용 가치가 없던 재화에서 경제재로 변화된 것은 (가)에서 (나)로 변화된 예이다. (　　)

▶ 정답 및 해설

1. O
2. X - (가)는 자유재, (나)는 경제재
3. X - 자유재도 사용가치가 있음
4. O
5. X - 자유재는 공급이 충분하여 시장에서 거래되지 않는 재화
6. O
7. X - 고가의 우주 여행이나 신약은 경제재
8. X - 수요가 증가하거나 공급이 감소할 경우 경제재로 변함
9. O
10. O
11. X - 경제 선택의 문제는 경제재에서 나타남
12. X - 경제재는 희소성이 있는 재화로 인간의 욕구에 비해 자원이 부족한 상태를 의미
13. O
14. X - 자유재가 사용가치가 더 큰 경우도 많음
15. O

※ 빈 칸 ㉠과 ㉡에 대한 설명으로 옳은 것은 O, 옳지 않은 것은 X를 하시오. (16~24)

우리는 (㉠)과 (㉡)을 같은 것으로 알고 있는 경우가 많다. 그러나 (㉠)은 사람들의 욕구에 비해 자원의 존재량이 상대적으로 적음을 나타내고, (㉡)은 사람들의 욕구와 상관없이 절대적으로 자원의 양이 적은 것을 의미한다.

16. 경제재의 경우 ㉠이 커지면 시장 가격이 상승한다. (　　)

17. ㉡이 있는 재화를 경제재, ㉡이 없는 재화를 자유재라고 한다. (　　)

18. 고려청자는 ㉠은 있는데 ㉡이 없는 경우에 해당한다. (　　)

19. ㉡은 수요가 감소하거나 공급이 증가하면 ㉠이 될 수 있다. (　　)

20. ㉠은 욕구에 대한 상대적 개념이지만, ㉡은 욕구에 관계없는 절대적 개념이다. (　　)

21. 다이아몬드는 ㉠과 ㉡이 모두 높은 재화이다. (　　)

22. ㉠은 어느 경제체제에서나 존재한다. (　　)

23. ㉠은 시장 경제 체제에서는 존재하지만, 계획 경제 체제에서는 존재하지 않는다. (　　)

24. 합리적인 선택을 하게 되면 ㉠이 소멸한다. (　　)

※ A~D는 희소성과 희귀성에 따라 재화를 분류한 것이다. 이에 대해 O, X 하시오. (25~32)

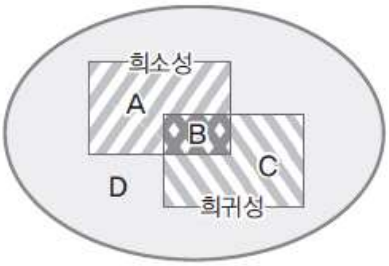

25. A는 인간의 욕구에 비해 양이 상대적으로 부족한 재화이다. (　　)

26. 평범한 직장인 홍길동이 쓴 일기장은 B에 해당한다. (　　)

27. '들판을 비추는 햇빛'은 B에 해당한다. (　　)

28. C는 B와 달리 경제적 가치가 없다. (　　)

29. C와 D에 속하는 재화는 모두 시장에서 거래되지 않는다. (　　)

30. 다이아몬드는 D에 해당한다. (　　)

31. C와 D는 시장 가격이 존재하지 않는다. (　　)

32. 유명 화가의 미술 작품은 B에 해당한다. (　　)

▶ 정답 및 해설

16. O
17. X – ㉡이 아니라 ㉠
18. X – 고려청자는 희소성과 희귀성이 모두 있는 재화
19. X – 희귀성은 재화에 부존량에 비해 욕구가 강한 경우에 나타남
20. O
21. O
22. O
23. X – 어느 경제체제에서나 희소성은 존재함
24. X – 합리적인 선택을 하더라도 재화의 희소성은 사라지지 않음
25. O
26. X – C에 해당
27. X – D에 해당
28. O
29. O
30. X – B에 해당
31. O
32. O

기본적인 경제 문제

※ 다음의 그림을 보고 옳은 설명은 O, 옳지 않은 설명은 X를 하시오. (1~9)

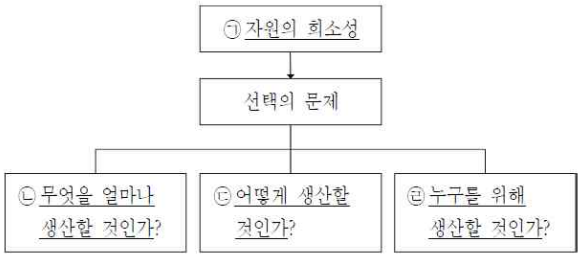

1. ㉠의 유무에 따라 정상재와 열등재로 구분할 수 있다. (　　)
2. ㉡~㉣은 모두 효율성을 강조한다. (　　)
3. ㉡은 효율성 뿐만 아니라 형평성도 강조한다. (　　)
4. 생산 공장을 해외로 이전할 것인지를 고민하는 것은 ㉢의 사례로 볼 수 있다. (　　)
5. 건물을 지을 때 노동력을 투입할지, 최첨단 장비를 투입할지 고민 중인 것은 ㉢에 해당한다. (　　)
6. ㉢, ㉣과 달리 ㉡을 해결하기 위해서는 형평성을 고려해야 한다. (　　)
7. ㉡~ ㉣을 합리적으로 해결하면 ㉠이 사라진다. (　　)
8. ㉡~ ㉣은 모두 자원의 희소성 때문에 생기는 문제들이다. (　　)
9. 조에족은 사냥의 결과물이 많든 적든 아이에서부터 노인에게까지 골고루 돌아가도록 하는데, 이는 ㉡과 관계된다. (　　)

▶ 정답 및 해설

1. X – 자유재와 경제제로 구분
2. O
3. X – 효율성과 형평성을 함께 강조하는 것은 ㉣
4. O
5. O
6. X – ㉣을 해결하기 위해 형평성을 고려함
7. X – 합리적으로 해결하더라도 희소성이 사라지지 않음
8. O
9. X – ㉣과 관계됨

경제 정보 분석(수치화된 정보)

※ 그림은 갑국의 연도별 수출액 증가율 추이를 나타낸다. 물음에 옳은 것은 O, 옳지 않은 것은 X를 하시오. (1~7)

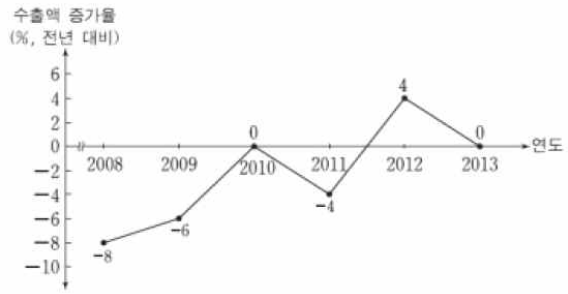

1. 2009년보다 2010년의 수출액은 증가하였다. (　　)
2. 2008년의 수출액이 가장 크다. (　　)
3. 2011년의 수출액이 가장 작다. (　　)
4. 2009년의 수출액이 2013년의 수출액보다 크다. (　　)
5. 2008년 이후 2011년을 제외하고 수출액은 계속 증가하였다. (　　)
6. 2010년과 2012년의 수출액은 같다. (　　)
7. 2009년에는 전년보다 수출액이 증가하였다. (　　)

※ 그림은 어느 기업의 연도별 이윤 증가율 추이를 나타낸다. 물음에 옳은 것은 O, 옳지 않은 것은 X를 하시오. (8~15)

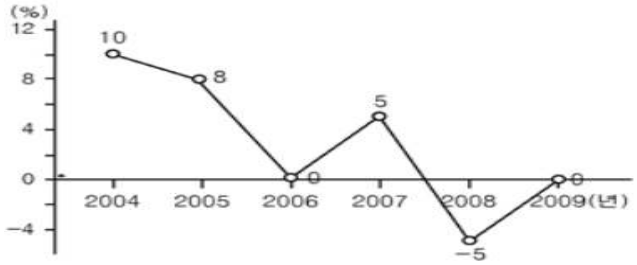

8. 2004년에 비해 2005년에는 이윤이 증가하였다. (　　)
9. 2008년의 이윤은 전년도보다 감소하였다. (　　)
10. 이윤이 가장 많은 연도는 2007년이다. (　　)
11. 2006년에는 전년보다 이윤이 감소하였다. (　　)
12. 이윤이 가장 적은 연도는 2004년이다. (　　)
13. 2005년의 이윤이 2009년의 이윤보다 많다. (　　)
14. 2006년의 이윤은 2008년의 이윤보다 적다. (　　)
15. 2008년과 2009년의 이윤은 동일하다. (　　)

▶ 정답 및 해설

1. X - 동일함
2. O
3. O
4. O
5. X - 2009년에는 감소하고 2010년과 2013년에는 동일
6. X - 2010년이 2012년보다 수출액이 더 큼 (변화율의 비대칭성)
7. X - 감소함
8. O
9. O
10. O
11. X - 동일
12. O
13. O (변화율의 비대칭성)
14. X - 많음 (변화율의 비대칭성)
15. O

기회 비용과 합리적 선택

※ 다음 자료에 대한 설명으로 옳은 것은 O, 옳지 않은 것은 X를 하시오. [2020 경찰직 1차 변형](1~7)

연봉 4,000만 원인 직장인 A는 커피숍 개업을 위해 1,000만 원을 들여 커피숍 사업에 대한 시장 조사를 하였다. 시장 조사에 따른 연간 지출 내역은 아래와 같다. (단, 연간 예상 수입은 2억 5,000만 원으로 가정한다.)

(단위: 만 원)

구분	인건비	재료비	임차료	대출 이자	기타 경비
금액	10,000	5,000	3,000	1,000	1,000

1. 커피숍 개업을 위해 1,000만 원을 들여 시장 조사를 한 비용은 명시적 비용에 해당한다. (　　)
2. 커피숍 개업에 대한 회계적 비용은 2억 원이다. (　　)
3. 연봉 4,000만 원은 커피숍 개업에 따른 암묵적 비용에 해당한다. (　　)
4. 커피숍 개업에 따른 경제적 이윤은 0원이다. (　　)
5. 커피숍 개업에 따른 회계적 이윤은 0원이다. (　　)
6. 시장 조사 비용 1,000만 원은 합리적인 선택을 위해 고려되어야 하는 비용에 해당한다. (　　)
7. 직장인 A는 회사를 계속 다니는 것이 합리적이다. (　　)

※ 다음 자료에 대한 설명으로 옳은 것은 O, 옳지 않은 것은 X를 하시오. [2015 해양경찰 변형](8~13)

갑은 다음과 같은 예상 판매 수입을 바탕으로 올해 밭농사 작물 하나만 선택하려고 한다. (단, 생산비용은 동일하다고 전제한다.)

작물	예상 판매 수입
배추	1,000만 원
무	1,100만 원
고추	1,200만 원

8. 배추와 무를 선택하였을 때의 기회비용은 동일하다. (　　)
9. 생산 이윤이 가장 높은 작물은 배추이다. (　　)
10. 고추를 선택하였을 때의 기회비용은 1,000만 원이다. (　　)
11. 여러 대안들 중 합리적인 선택을 하기 위해서는 기회비용이 가장 큰 대안을 선택하여야 한다. (　　)
12. 배추를 선택할 경우 기회비용이 가장 작다. (　　)
13. 무를 선택하였을 때 기회비용은 배추나 고추의 예상 판매 수입이다. (　　)
14. 주유소에서 아르바이트를 하면 시간당 5,000원을 벌고, 고기집에서 아르바이트를 하면 시간당 6,000원을 벌 수 있는 대학생이 아르바이트를 하는 대신에 4시간 동안 8,000원의 입장료를 내고 프로야구 경기를 관람할 경우 기회비용은 24,000원이다. (　　) [2013 해양 경찰]

▶ 정답 및 해설

1. X – 매몰 비용
2. O
3. O
4. X – 1천만 원
5. X – 5천만 원 (회계적 이윤은 총수입에서 명시(회계)적 비용을 뺀 값이므로)
6. X – 매몰 비용은 고려 대상이 아님
7. X – 경제적 이윤이 1천만 원이므로 커피숍을 개업하는 것이 합리적인 선택
8. O – 모두 1,200만 원으로 동일
9. X – 고추가 생산 이윤이 가장 높음
10. X – 1,100만 원
11. X – 기회비용이 가장 작은 대안을 선택하는 것이 합리적
12. X – 고추를 선택할 때 기회비용이 가장 작음
13. X – 고추의 예상 판매 수입이 무를 선택했을 때의 기회비용 (∵ 기회비용은 포기하기 되는 가치 중 가장 큰 값이므로)
14. X – 32,000원 (명시적 비용 8,000원 + 암묵적 비용 24,000원)

경제적 유인

※ 다음 자료는 경제적 유인에 대한 설명이다. 이에 대한 설명으로 옳은 것은 O, 옳지 않은 것은 X를 하시오. (1~11)

구분	(가)	(나)
의미	경제적 유인의 대상자에게 이익으로 작용	경제적 유인의 대상자에게 손해(비용)로 작용
사례	㉠	㉡

1. 경제적 유인은 합리적인 사람들의 선택에 영향을 준다. (　　)
2. (가)는 긍정적 유인, (나)는 부정적 유인에 해당한다. (　　)
3. (가)는 경제적 행동이 강화되도록 유도한다. (　　)
4. ㉠에는 '프로야구 선수의 FA 계약 시 인센티브 제도'가 들어갈 수 있다. (　　)
5. 시장 가격 상승은 수요자에게 (가)로 작용한다. (　　)
6. 지방자치단체의 출산 장려금 100만 원 지급은 ㉠에 들어갈 수 있다. (　　)
7. ㉠에는 '전력 요금 누진제'가 들어갈 수 있다. (　　)
8. ㉡에는 '쓰레기 종량제 위반에 대한 과태료 부과'가 들어갈 수 있다. (　　)
9. 장애인 채용을 10% 이상 한 경우 그 기업에 조세 감면을 해주기로 하는 경우 ㉡에 해당한다. (　　)
10. (나)와 달리 (가)는 개별 경제 주체가 합리적인 결정을 하도록 유도한다. (　　)
11. 특허권 부여는 ㉠에 해당한다. (　　)

▶ 정답 및 해설

1. O
2. O
3. O
4. O
5. X – (나)로 작용
6. O
7. X – ㉡에 해당
8. O
9. X – ㉠에 해당
10. X – 긍정적 유인과 부정적 유인 모두 개별 경제 주체가 합리적인 결정을 하도록 유도
11. O

경제 체제

※ 다음 그림은 경제 체제에 대한 설명이다. 이에 대한 설명으로 옳은 것은 O, 옳지 않은 것은 X를 하시오. (단, (가)~(다)는 각각 시장 경제 체제, 계획 경제 체제, 혼합 경제 체제 중 하나이다.) (1~15)

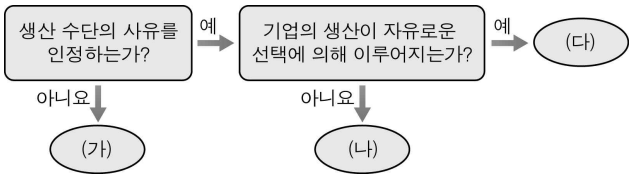

1. (가)는 계획 경제 체제, (나)는 혼합 경제 체제, (다)는 시장 경제 체제이다. ( )
2. (가)보다 (다)에서 형평성이 중시된다. ( )
3. (가)보다 (다)에서 효율성이 중시된다. ( )
4. (나)보다 (다)에서 정부의 개입이 더 크다. ( )
5. 우리나라의 헌법은 (가)를 기본으로 하면서 일부 (나)의 요소를 도입하여 (다)를 따르고 있다고 본다. ( )
6. (다)보다 (가)에서 빈부 격차가 더 크다. ( )
7. (가)는 낮은 경제적 유인으로 창의성이 부족하고 비효율적으로 운영된다는 단점이 있다. ( )
8. (다)보다 (가)에서 더 많은 경제적 유인이 제공된다. ( )
9. (다)는 '보이지 않는 손'에 의한 사회 이익 증진을 추구한다. ( )
10. (가)와 달리 (다)는 자원의 희소성으로 인한 경제 문제가 발생한다. ( )
11. 희소성으로 인한 경제 문제는 어떤 경제 체제에서도 발생할 수 있다. ( )
12. (가)는 전통과 관습에 의한 경제 운영을 중시한다. ( )
13. (다)는 정부의 명령에 의한 문제 해결을 중시한다. ( )
14. (가)보다 (다)에서 시장 실패가 나타날 가능성이 높을 것이다. ( )
15. (가)와 달리 (다)에서는 기본적인 경제 문제가 발생하지 않는다. ( )

▶ 정답 및 해설

1. O
2. X - 시장 경제 체제는 효율성이 중시됨
3. O
4. X - 시장 경제 체제보다 혼합 경제 체제에서 정부의 개입이 더 큼
5. X- (다)를 기본으로 하면서 (가)의 일부 요소를 도입하여 (나)를 따르고 있음
6. X - 빈부 격차는 시장 경제 체제에서 더 크게 나타남
7. O
8. X - 경제적 유인은 시장 경제 체제에서 더 많이 제공됨
9. O
10. X - 시장 경제 체제와 계획 경제 체제는 모두 자원의 희소성으로 인한 경제 문제가 발생. 즉 모든 경제 체제에서는 자원의 희소성으로 인한 경제 문제가 발생함
11. O
12. X - 전통과 관습에 의한 경제 운영을 중시하는 것은 전통 경제 체제
13. X - 정부의 명령에 의한 문제 해결을 중시하는 것은 계획 경제 체제
14. O
15. X - 기본적인 경제 문제는 모든 경제 체제에서 발생

자본주의 시장 경제 체제의 변화

※ 다음 그림은 자본주의 경제 체제의 변천 과정을 도식화한 것이다. 이에 대한 설명으로 옳은 것은 O, 옳지 않은 것은 X를 하시오. (1~23)

㉠ 상업 자본주의	→	㉡	→	㉢ 독점 자본 주의	→	㉣	→	㉤

1. ㉡는 산업 자본주의, ㉣은 수정 자본주의, ㉤은 신자유주의가 들어간다. (　　)
2. ㉠에서는 절대 왕정의 강력한 중상주의를 바탕으로 상업과 무역이 발달하여다. (　　)
3. ㉡에는 수정 자본주의가 들어간다. (　　)
4. 시민혁명과 산업혁명은 ㉡에서 ㉢으로 이동하는 계기가 된 사건이다. (　　)
5. 애덤 스미스의 자유방임주의와 세이의 법칙은 ㉡ 시기의 사상적 기초가 되었다. (　　)
6. ㉡ 시기에는 공급을 강조하였지만, ㉣ 시기에는 수요를 강조하였다. (　　)
7. ㉣시기에는 경제 성장의 요인으로 공급보다 수요를 더 중요하게 보았다. (　　)
8. ㉠ 시기에는 정부의 시장 개입을 최소화하는 것이 일반적이었다. (　　)
9. ㉡ 시기에는 개인의 합리적 행위가 사회 전체의 경제적 합리성을 보장한다는 사상이 지배적이었다. (　　)
10. 세계 경제 대공황은 ㉢이 등장하게 된 배경으로 작용하였다. (　　)
11. ㉣ 시기의 대표적인 정책으로 복지 축소, 공기업 민영화 등이 있다. (　　)
12. ㉤ 시기에는 정부의 지나친 시장 개입을 비판하고 민간의 자유로운 경제 활동을 옹호하였다. (　　)
13. 케인스(J. M. Keynes)의 혼합 경제 이론이 사상적 기초가 된 시기는 ㉡이다. (　　)
14. ㉡ 시기에는 복지 제도의 확대를 강조하였다. (　　)
15. ㉢ 시기에서 루스벨트 대통령의 뉴딜 정책이 시행되었다. (　　)
16. ㉣ 시기에서 정부의 지출 축소를 통한 경기 부양을 시행하였다. (　　)
17. ㉡시기에는 '보이지 않는 손'에 대한 믿음이 쇠퇴하였다. (　　)
18. 석유 파동은 ㉤시기가 등장하게 된 배경이 된다. (　　)
19. ㉣ 시기때에는 큰 정부를 지향한 반면, ㉤ 시기에서는 작은 정부를 지향하였다. (　　)
20. ㉤ 시기에서는 시장 원리 준수, 자유 경쟁 촉진, 정부 규제 철폐, 기업 구조 조정 등을 강조하였다. (　　)
21. 시장 실패는 ㉣이 도래하게 된 배경이 되었고, 정부 실패는 ㉤이 도래하게된 배경이 되었다. (　　)
22. 스태크플레이션을 동반한 2차례의 석유 파동은 시장에 대한 정부의 적극적인 개입을 강조하게 된 배경이 되었다. (　　)
23. 시장의 자동 조절 기능의 한계를 체감하고 독점 자본주의가 등장하였다. (　　)

▶ 정답 및 해설

1. O
2. O
3. X - 산업 자본주의
4. X - ㉠에서 ㉡으로 이동하는 계기가 됨
5. O
6. O
7. O
8. X - 정부의 개입을 강조함. 보호주의 시행
9. O
10. X - ㉣이 등장하게 된 배경
11. X - ㉤ 시기의 특징
12. O
13. X - ㉣ 시기에서 케인스의 혼합 경제 이론이 사상적 기초가 됨
14. X - ㉣ 시기에서 복지 제도의 확대를 강조
15. X - ㉣ 시기
16. X - 경기 부양은 정부의 재정 지출 확대를 통해 이루어짐
17. X - ㉣ 시기에서 보이지 않는 손에 대한 믿음이 쇠퇴하고 정부의 개입을 강조함
18. O
19. O
20. O
21. O
22. X - 정부 개입의 축소를 가져옴
23. X - 수정 자본주의가 등장

제2단원 경제 주체의 경제 활동

소득과 소비

※ 다음 그림은 가계 소득의 유형을 구분한 것이다. 이에 대한 설명으로 옳은 것은 O, 옳지 않은 것은 X를 하시오. (1~6)

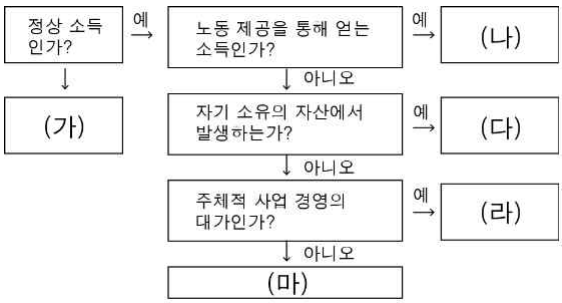

1. (가)는 비경상소득, (나)는 근로 소득, (다)는 재산 소득, (라)는 사업 소득, (마)는 이전 소득에 해당한다. (　　)
2. 공무원인 갑이 매월 받는 월급은 (나)에 해당하지만, 퇴직 시 지급받는 퇴직금은 (마)에 해당한다. (　　)
3. 부유한 사람일수록 저소득자보다 대체로 (다)와 (라)의 비중이 높은 편이다. (　　)
4. 매월 받는 연금은 (마)에 해당하지만, 연금을 일시불로 수령 시 (가)에 해당한다. (　　)
5. 주식 배당금과 예금의 이자는 (가)에 해당한다. (　　)
6. 결혼식 축의금은 (가)에 해당한다. (　　)

※ 다음 그림은 갑의 지난달 수입과 지출을 기록한 것이다. 이에 대한 설명으로 옳은 것은 O, 옳지 않은 것은 X를 하시오. (7~12)

수입		지출	
월급	300만 원	세금	30만 원
예금 이자	20만 원	사회 보험료	50만 원
주식 배당금	10만 원	생활비	200만 원
		정기 적금	50만 원
계	330만 원	계	330만 원

*사회 보험료: 국민 연금 제도, 국민 건강 보험 제도 등에 따라 의무적으로 내야 하는 금액

7. 비소비지출은 30만 원이다. (　　)
8. 정기 적금은 기타 지출에 해당한다. (　　)
9. 처분 가능 소득은 280만 원이다. (　　)
10. 갑의 재산 소득은 20만 원이다. (　　)
11. 갑에게 지난 달 비경상소득이 발생하였다. (　　)
12. 갑은 근로 소득만으로 소비 지출을 충당할 수 있다. (　　)

▶ 정답 및 해설

1. O
2. X – 퇴직금은 비경상소득인 (가)에 해당
3. O
4. O
5. X – 재산 소득인 (다)에 해당
6. O
7. X – 세금과 사회 보험료가 비소비지출에 해당하므로 80만 원
8. O
9. X – 처분 가능 소득은 소득에서 비소비 지출을 뺀 것이므로 250만 원
10. X – 예금 이자와 주식 배당금은 모두 재산 소득이므로 30만 원
11. X – 근로 소득과 재산 소득만 발생함
12. O – 갑의 근로 소득은 300만 원이고, 소비 지출은 생활비 200만 원이므로 충당 가능

합리적인 소비

※ 다음 자료에 대한 설명으로 옳은 것은 O, 옳지 않은 것은 X를 하시오. (1~5) [2021 지방직 변형]

갑은 X재와 Y재만을 합리적으로 소비한다. 표는 각 재화 1개 추가 소비에 따른 편익 증가분을 화폐 단위로 나타냈다. 각 재화의 가격은 각각 5달러이고, 갑의 현재 용돈은 25달러이다. 단, 갑은 용돈을 모두 사용한다.

구분	1개째	2개째	3개째	4개째	5개째
X재	10	9	7	4	0
Y재	12	10	6	0	8

1. X재 2개, Y재 3개 소비 시 총편익이 가장 크다. (　　)
2. X재 소비 증가에 따른 총편익은 지속적으로 감소한다. (　　)
3. 만약 현재 10달러만을 가지고 있는 경우 X재만을 2개 소비하는 것은 합리적인 소비가 될 수 있다. (　　)
4. 25달러로 X재만을 소비하는 경우보다 Y재만을 소비하는 경우가 총편익이 더 크다. (　　)
5. 용돈이 5달러 증가하면 현재보다 Y재 1개를 추가로 소비하게 될 것이다. (　　)

※ 표는 X재를 4개까지 소비할 때, X재 단위당 가격과 갑과 을이 얻는 총편익을 나타낸 것이다. 이에 대한 설명으로 옳은 것은 O, 옳지 않은 것은 X를 하시오. (6~12)

(단위: 개, 만 원)

소비량	1	2	3	4
X재 단위당 가격	5	5	5	5
갑의 총편익	10	19	27	34
을의 총편익	13	24	32	39

6. 갑의 순편익은 X재 소비량이 증가할수록 계속 증가한다. (　　)
7. 갑은 X재 3개를 소비할 때 가장 합리적인 선택을 한 것이다. (　　)
8. 을은 X재 소비량이 4개 일 때 순편익이 가장 크다. (　　)
9. 합리적인 소비를 위해서는 총편익이 최대가 되는 선택을 해야 한다. (　　)
10. 갑이 X재 4개를 소비할 때와 을이 X재 2개를 소비할 때 순편익은 동일하다. (　　)
11. 갑과 을이 X재를 추가 소비할 때마다 얻는 편익의 크기는 계속 감소한다. (　　)
12. 갑과 을은 모두 4개를 소비할 때 합리적인 소비가 된다. (　　)

▶ 정답 및 해설

(X, Y)	총편익
(0, 5)	36
(1, 4)	38
(2, 3)	47
(3, 2)	**48**
(4, 1)	42
(5, 0)	30

1. X – X재 3개와 Y재 2개를 소비할 경우 총편익이 48달러로 가장 큼
2. X – X재 소비 증가에 따른 총편익은 지속적으로 증가하다가 5개째는 일정
3. X – X재 2개를 소비할 경우 총편익은 Y재를 2개 소비할 때와 X재 1개와 Y재 1개를 소비할 때보다 총편익이 더 작음
4. O – 위의 표를 참조하면 X만을 소비하는 경우에는 총편익이 30, Y재만을 소비하는 경우에는 총핀익이 36
5. O – 용돈이 5달러 증가하면 현재의 합리적인 소비인 X재 3개와 Y재 2개에서 편익의 증가분이 큰 쪽으로 소비를 늘릴 것. X재를 4개째 소비하면 편익이 4가 증가하지만 Y재를 3개째 소비하면 편익이 6만큼 증가하므로 용돈이 5달러 증가하면 현재보다 Y재 1개를 추가로 소비하게 될 것임

	1	2	3	4
X재의 총비용	5	10	15	20
갑의 총편익	10	19	27	34
을의 총편익	13	24	32	39
갑의 순편익	5	9	12	14
을의 순편익	8	14	17	19

6. O
7. X – 4개를 소비할 때 순편익이 최대가 되므로 합리적인 선택이 됨
8. O
9. X – 순편익이 최대
10. O
11. O – 갑(10→9→8→7), 을(13→11→8→7)
12. O – 순편익이 최대가 되는 것이 합리적인 소비가 되므로

기업의 경제 활동

※ 표는 A 기업의 X재 생산량에 따른 총수입과 총비용을 나타낸 것이다. 이에 대한 설명으로 옳은 것은 O, 옳지 않은 것은 X를 하시오. (1~7)

생산량(개)	1	2	3	4	5	6	7
총수입(만 원)	6	12	18	24	30	36	42
총비용(만 원)	4	6	10	16	24	34	46

1. 생산량이 4개일 때 X재 1개당 생산 비용이 가장 작다. (　　)
2. X재의 개당 판매 가격은 6만원으로 일정하다. (　　)
3. 생산량이 5개일 때 이윤이 극대화된다. (　　)
4. A 기업이 7개를 생산할 경우 손해이다. (　　)
5. 생산량이 1개씩 증가할 때마다 추가되는 생산 비용은 감소한다. (　　)
6. 생산량이 1개씩 증가할 때마다 추가되는 판매 수입은 일정하다. (　　)
7. X재를 2개 생산할 경우 평균 비용이 최소가 된다. (　　)

※ 표는 A 기업의 X재 생산량에 따른 평균 수입과 총비용을 나타낸 것이다. 이에 대한 설명으로 옳은 것은 O, 옳지 않은 것은 X를 하시오. (8~14) [2016 교육 행정 변형]

판매량(개)	1	2	3	4	5
평균 수입(만 원)	100	100	100	100	100
총비용(만 원)	200	260	300	360	470

* 평균 수입 = 총수입 / 판매량

8. X재 판매량이 1개씩 증가할 때마다 추가적으로 발생하는 비용이 증가한다. (　　)
9. X재 판매량이 4개일 때 A 기업의 이윤은 극대화된다. (　　)
10. X재 판매 가격은 100만원이다. (　　)
11. X재 판매량이 증가하여도 A 기업의 총수입은 일정하다. (　　)
12. A 기업의 이윤은 모든 판매량에서 양(+)의 값을 가진다. (　　)
13. A 기업은 3개를 생산할 경우 적자를 보게 된다. (　　)
14. A 기업의 X재 생산량 증가에 따른 한계 수입은 일정하다. (　　)

▶ **정답 및 해설**

생산량(개)	1	2	3	4	5	6	7
이윤(만 원)	2	6	8	8	6	2	-4
평균 비용(만 원)	4	3	약 3.3	4	4.8	약 5.7	약 6.6

1. X - 생산량이 2개일 때 X재 1개당 생산 비용이 가장 작음
2. O
3. X - 산량이 3개, 4개일 때 이윤이 극대화
4. O - 이윤이 -4만원
5. X - 생산량이 1개일 때를 제외하고, 생산량이 1개씩 증가할 때마다 추가되는 생산 비용은 증가
6. O - 6만 원으로 일정
7. O

판매량(개)	1	2	3	4	5
평균 수입(만 원)	100	100	100	100	100
총수입(만 원)	100	200	300	400	500
총비용(만 원)	200	260	300	360	470
총이윤(만 원)	-100	-60	0	40	30
한계비용(만 원)	200	60	40	60	110

8. X - X재 판매량이 1개씩 증가할 때마다 추가적으로 발생하는 비용이 증가하는 것이 아니라 위의 한계비용을 살펴보면 200→60→40→60→110만원으로 감소하였다가 증가
9. O
10. O
11. X - 총수입도 일정하게 증가
12. X - 판매량이 4개와 5개일때에만 양(+)의 값을 가짐
13. X - 이윤이 0이므로 적자는 아님
14. O

※ 표는 A 기업의 X재 생산량에 따른 평균 수입과 평균 비용을 나타낸 것이다. 이에 대한 설명으로 옳은 것은 O, 옳지 않은 것은 X를 하시오. (15~22)

생산량(개)	1	2	3	4	5	6
평균 수입(만 원)	9	9	9	9	9	9
평균 비용(만 원)	4	3	4	5	7	9

※ 평균 수입 = 총수입 ÷생산량, 평균 비용 = 총비용 ÷ 생산량

15. A 기업이 X재 생산을 늘릴수록 총수입과 총비용은 증가한다. ( )

16. X재의 가격은 생산량이 늘수록 하락한다. ( )

17. 총비용은 생산량이 3개일 때 가장 작다. ( )

18. 평균 비용이 가장 작을 때 이윤은 최대가 된다. ( )

19. 기업은 평균 수입과 평균 비용이 같아질 때까지 생산량을 늘린다. ( )

20. A 기업은 2개를 생산할 경우 이윤이 최대가 된다. ( )

21. 생산량이 4개일 때와 5개일 때 총수입과 총비용의 차이는 같다. ( )

22. A 기업이 X재 생산을 늘릴때마다 한계비용은 작아진다. ( )

※ 그래프는 A국과 B국이 주어진 자원을 이용하여 최대로 생산할 수 있는 X재와 Y재의 생산 가능 곡선이다. 이에 대한 설명으로 옳은 것은 O, 옳지 않은 것은 X를 하시오. (23~29)

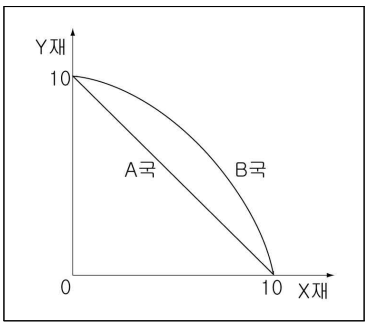

23. A국과 B국 모두 Y재는 최대 10단위까지 생산할 수 있다. ( )

24. X재를 3단위 생산할 때의 기회비용은 A국보다 B국이 크다. ( )

25. Y재를 3단위 생산할 때의 기회비용은 A국보다 B국이 크다. ( )

26. B국에서 X재 1단위 생산 증가에 따른 기회비용은 점차 증가한다. ( )

27. X, Y재를 둘 다 생산한다면 B국은 A국보다 생산량의 합이 항상 많다. ( )

28. A국에서는 효율적인 생산이 되지만, B국에서는 비효율적인 생산이 되는 조합이 존재한다. ( )

29. A국은 X재 생산에 따른 기회비용이 일정하지만, B국은 X재 생산에 따른 기회비용이 증가한다. ( )

▶ 정답 및 해설

생산량(개)	1	2	3	4	5	6
총수입 (만 원)	18	27	36	45	54	63
총비용 (만 원)	8	9	16	25	42	63
이윤	10	18	20	20	12	0

15. O
16. X - 가격은 생산량과 관계없이 9만 원으로 일정
17. X - 총비용은 생산량이 1개일 때 8만 원으로 가장 작음
18. X - 평균 비용이 가장 작다고 이윤이 최대가 되는 것은 아님
19. X - 평균 수입과 평균 비용이 같아지게 되면, 이윤은 0이 됨.
20. X - 3개나 4개를 생산할 때 이윤이 최대가 됨
21. X - 생산량이 3개일 때와 4개일 때의 총수입과 총비용의 차, 즉 이윤은 20만 원으로 같음
22. X - 감소하다가 증가함 (8→1→7→9→17→21)
23. O
24. X - X재를 3단위 생산할 때, X재 생산을 위해 포기하는 Y재의 수량이 B국이 더 작음 (생산가능곡선의 기울기가 기회비용)
25. X - Y재를 3단위 생산할 때, Y재 생산을 위해 포기하는 X재의 수량은 B국이 더 작음 (생산가능곡선의 기울기가 기회비용)
26. O - 기회비용 체증의 법칙
27. O - A, B국이 X재 또는 Y재만 생산하게 되면 생산량은 10단위로 동일. 생산 가능 곡선이 원점에서 멀어질수록 생산량은 많아지므로 나머지 구간에서는 B국이 항상 많음
28. O
29. O - 생산가능 곡선이 직선이면 기회비용은 일정하지만, 원형인 경우 기회비용 체증의 법칙이 적용되어 증가

조세의 분류

※ 다음 중 직접세에 해당하는 것은 '직', 간접세에 해당하는 것은 '간'을 하시오. (1~13)

1. 납세자와 담세자가 동일한 조세를 말한다. (　　)
2. 조세 저항이 강하여 징수가 어렵다. (　　)
3. 조세 부담의 역진성이 나타나 저소득층에게 불리하다. (　　)
4. 일반적으로 비례세율을 적용한다. (　　)
5. 주로 소득과 재산에 대하여 부과한다. (　　)
6. 조세 전가가 가능하다. (　　)
7. 물가 상승의 우려가 있다. (　　)
8. 담세 능력에 따른 공평 과세를 실현할 수 있다. (　　)
9. 소득 재분배의 효과가 크다. (　　)
10. 주로 선진국에서 비중이 높은 편이다. (　　)
11. 주세와 증권거래세가 여기에 해당한다. (　　)
12. 개별소비세가 여기에 해당한다. (　　)
13. 법인세와 상속세가 여기에 해당한다. (　　)

※ 다음 그래프에 대한 분석으로 옳은 것은 O, 옳지 않은 것은 X를 하시오. (14~24)

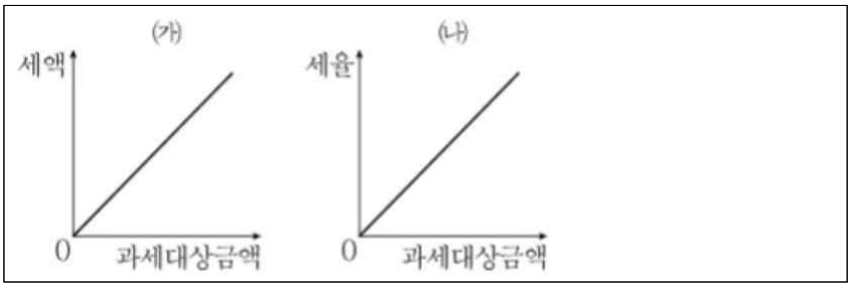

14. (가)는 담세 능력에 따라 세율 구조가 누진적이다. (　　)
15. 소비 지출에 부과되는 세금은 주로 (가)의 형태를 띤다. (　　)
16. (나)의 고가 상품에 부과되는 개별소비세는 소득 분배 상황을 악화시킨다. (　　)
17. (나)는 조세 저항이 커서 징수하기가 어렵다. (　　)
18. (가)는 저소득층이 상대적으로 많은 세금을 낸다. (　　)
19. (가)에는 부가가치세, (나)에는 소득세가 포함된다. (　　)
20. (가)는 과세 대상 금액이 커져도 세액이 일정하다. (　　)
21. (나)의 조세 제도를 실시하면 과세 전에 비해 저소득층에게 불리하다. (　　)
22. 조세 제도가 (가)에서 (나)로 변화하면 소득 재분배 효과가 커진다. (　　)
23. 조세 제도가 (나)에서 (가)로 변화하면 조세 부담의 역진성이 커진다. (　　)
24. 일반적으로 (가)는 납세자와 담세자가 일치하는 세금에 적용된다. (　　)

▶ 정답 및 해설

1. 직
2. 직
3. 간
4. 간
5. 직
6. 간
7. 간
8. 직
9. 직
10. 직
11. 간
12. 간
13. 직
14. X - 비례적
15. O
16. X - 개별소비세는 (가)에 해당하고, 소득 분배 상황을 개선시킴
17. O
18. O - 비례세는 조세부담의 역진성이 나타남
19. O
20. X - 세율이 일정하고, 세액은 커짐
21. X - 저소득층에 유리
22. O
23. O
24. X - 납세자와 담세자가 일치하지 않는 세금에 주로 적용

제3장 시장과 경제 활동

수요와 공급 / 시장의 균형

※ 다음 그림은 X재의 수요량 또는 수요의 변동을 나타낸다. (가) 또는 (나)가 나타날 수 있는 요인에 대한 설명으로 옳은 것은 O, 옳지 않은 것은 X를 하시오. (1~10)



1. (가)는 가격이 하락할 경우 수요량이 증가했을 때 나타난다. (　　)
2. X재 생산비의 상승은 (가)의 요인이 된다. (　　)
3. X재의 보완재인 Y재 가격의 하락은 (가)의 요인이 된다. (　　)
4. X재가 정상재인 경우 소득이 증가할 경우 (나)의 요인이 된다. (　　)
5. X재 생산에 부과되는 세금의 증가는 (가)의 요인이 된다. (　　)
6. 미래 가격이 상승할 것으로 예상되는 경우 (가)의 요인이 된다. (　　)
7. X재의 대체재인 Z재 가격의 상승은 (나)의 요인이 된다. (　　)
8. X재가 열등재이면 소비자들의 소득 증가는 (나)의 요인이 된다. (　　)
9. X재가 건강에 좋다는 연구 결과가 나왔을 경우 이는 (가)의 요인이 된다. (　　)
10. 수요자 수의 감소는 (나)의 요인이 된다. (　　)

※ 다음 그림은 수박(X재)의 시장 균형점 e의 변화를 나타낸 것이다. 이에 대한 설명으로 옳은 것은 O, 옳지 않은 것은 X를 하시오. (11~17)

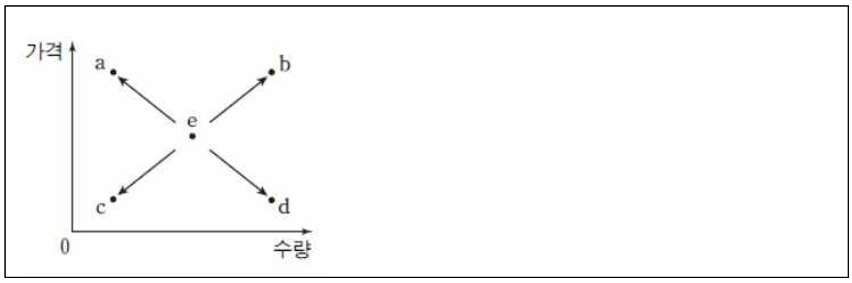

11. 병충해로 X재의 생산량이 감소하는 경우 a로 이동할 수 있다. (　　)
12. X재의 보완재인 Y재의 가격이 상승할 경우 b로 이동할 수 있다. (　　)
13. X재에 대한 선호도가 낮아지는 경우 b로 이동할 수 있다. (　　)
14. 광고가 증가할 경우 b로 이동할 수 있다. (　　)
15. 대체재인 참외의 가격이 하락하는 경우 c로 이동할 수 있다. (　　)
16. 수박의 생산 비용이 증가하는 경우 d로 이동할 수 있다. (　　)
17. 생산자에 대해 보조금을 지급하는 경우 d로 이동할 수 있다. (　　)

▶ 정답 및 해설

1. O
2. X – (가)는 가격 하락에 따른 수요량 증가
3. X – 보완재의 가격 하락은 수요 증가 요인이므로 (나)의 요인
4. O
5. X – 세금의 증가는 공급 감소 요인
6. X – 미래 가격 상승 예상은 수요 증가 요인이므로 (나)의 요인
7. O
8. X – 열등재의 경우 소득 증가는 수요 감소 요인
9. X – 기호 증가는 수요 증가 요인이므로 (나)의 요인
10. X – 수요자 수의 감소는 수요 감소 요인
11. O – 공급 감소 요인
12. X – 수요 감소 요인이므로 c로 이동
13. X – 수요 감소 요인이므로 c로 이동
14. O
15. O
16. X – 공급 감소로 a로 이동
17. O

※ 다음 그림은 X재의 시장 균형점 E의 변화를 나타낸 것이다. 이에 대한 설명으로 옳은 것은 O, 옳지 않은 것은 X를 하시오. (18~25)

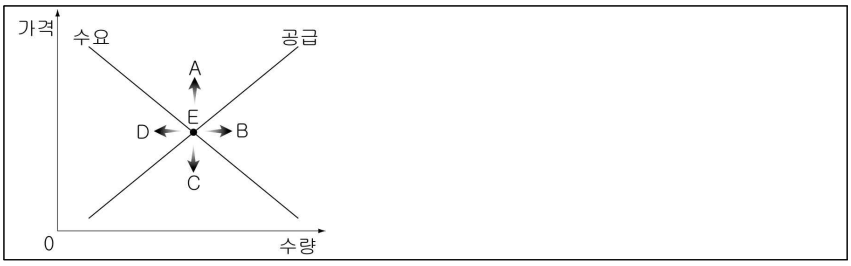

18. 자동차를 타는 사람이 많아지고, 자동차의 생산 원가가 상승한 경우에는 균형점이 A로 이동한다. (　　)

19. 도라지가 감기에 좋다는 연구 결과가 발표되고, 도라지를 생산하는 농가가 증가한 경우에는 균형점이 A로 이동한다. (　　)

20. 닭고기의 대체재 가격이 하락하고, 조류 독감이 발생하여 닭이 폐사된 경우에는 균형점이 B로 이동한다. (　　)

21. 휘발유의 가격이 상승하고, 자동차에 들어가는 반도체 가격이 상승한 경우 자동차 시장의 균형점이 B로 이동한다. (　　)

22. 커피의 보완재 가격이 상승하고, 커피 수입이 증가한 경우에는 균형점이 C로 이동한다. (　　)

23. 콩에 항암 효과가 있다는 뉴스가 보도되고, 콩 농사가 풍년이 든 경우에는 균형점이 C로 이동한다. (　　)

24. 밀가루 가격이 폭등하고 사람들의 빵에 대한 소비가 줄어든 경우 식빵의 균형점이 D로 이동한다. (　　)

25. 자전거 생산 업체에 대하여 보조금을 지급하고, 대중 교통 요금의 가격이 인상된 경우 자전거의 균형점이 D로 이동한다. (　　)

※ 다음 그림은 재화의 가격 변동에 따른 연관재의 수요 변화를 나타낸 것이다. 이에 대한 설명으로 옳은 것은 O, 옳지 않은 것은 X를 하시오. (26~34)

< 재화의 가격 변동에 따른 연관재의 수요 변화 >

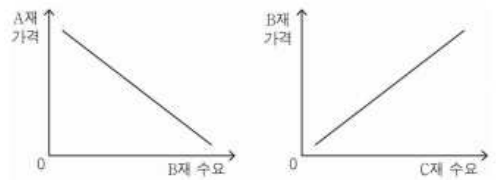

26. A재의 가격이 상승하면, B재의 가격은 상승한다. (　　)

27. A재의 공급이 증가하면, B재의 수요가 증가한다. (　　)

28. A재의 가격이 하락하면, B재의 판매 수입은 감소한다. (　　)

29. B재의 생산 기술이 발달하면, C재의 가격은 하락한다. (　　)

30. B재의 공급이 감소하면 A재의 가격이 하락한다. (　　)

31. B재의 가격이 상승하면, C재의 수요 곡선은 좌측으로 이동한다. (　　)

32. A재의 공급이 증가하면 C재의 수요가 감소한다. (　　)

33. C재의 공급이 감소하면 A재의 가격이 하락한다. (　　)

34. B재의 생산 비용이 증가하면, C재의 수요는 감소한다. (　　)

▶ 정답 및 해설

18. O - 수요 증가, 공급 감소
19. X - B로 이동 (수요 증가, 공급 증가)
20. X - D로 이동 (수요 감소, 공급 감소)
21. X - D로 이동 (수요 감소, 공급 감소)
22. O - 수요 감소, 공급 증가
23. X - B로 이동 (수요 증가, 공급 증가)
24. O - 공급 감소, 수요 감소
25. X - B로 이동 (공급 증가, 수요 증가)
26. X - A재의 가격이 상승하면, B재의 수요는 감소하고 그 결과 B재의 가격은 하락
27. O - A재의 공급이 증가하면 A재의 가격은 하락하고 보완재인 B재의 수요는 증가
28. X - A재의 가격이 하락하면, B재의 수요가 증가하고 그 결과 판매 수입은 증가
29. O - B재의 생산 기술이 발달하면, B재의 공급이 증가하여 가격이 하락하고 C재의 수요는 하락하여 C재의 가격은 하락
30. O - B재의 공급이 감소하면 B재의 가격이 상승하고 보완재인 A재의 수요가 감소하여 A재의 가격은 하락
31. X - B재의 가격이 상승하면, C재의 수요는 증가하므로 수요 곡선은 우측으로 이동
32. X - A재와 C재의 관계를 알 수 없음
33. X - A재와 C재의 관계를 알 수 없음
34. X - B재의 공급이 감소하여 가격이 상승하고 C재의 수요는 증가

시장의 균형 심화

※ 다음 그림은 공급자에게 상품 1개당 30원의 세금을 부과한 경우 균형점의 이동을 나타낸 것이다. 이에 대한 설명으로 옳은 것은 O, 옳지 않은 것은 X를 하시오. (1~8)

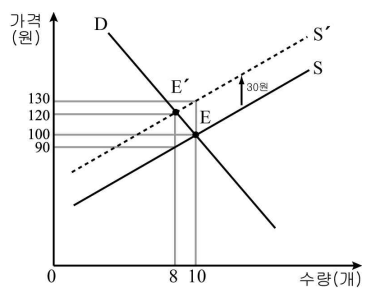

1. 공급자에 대한 세금 부과는 공급 감소 요인이다. (　　)
2. 공급자에 대하여 세금을 부과하면 수요 곡선은 좌측으로 이동한다. (　　)
3. 세금 부과로 공급자의 총 판매액은 증가한다. (　　)
4. 시장 가격은 100원에서 130원으로 상승하게 된다. (　　)
5. 공급자에게 상품 1개당 30원의 세금을 부과하면 시장 가격은 30원이 상승하게 된다. (　　)
6. 세금 납부 후 상품 1개당 공급자의 판매 수입은 90원이다. (　　)
7. 공급자에게 상품 1개당 30원의 세금을 부과하면 소비자는 20원을 부담하고, 공급자는 10원을 부담하는 셈이다. (　　)
8. 소비자는 세금 부과 전보다 상품 1개당 20원을 더 부담하게 된다. (　　)

※ 다음 그림은 X재의 가격에 따른 수요량과 공급량을 나타낸 것이다. 이에 대한 설명으로 옳은 것은 O, 옳지 않은 것은 X를 하시오. (9~15)

가격(원)	100	200	300	400	500
수요량(개)	50	40	30	20	10
공급량(개)	5	15	25	35	45

9. X재의 시장 가격은 300원과 400원 사이에서 결정될 것이다. (　　)
10. 사회적 잉여를 극대화하는 가격은 300원과 400원 사이에서 결정된다. (　　)
11. 가격이 200원일 때 초과 공급량은 25개이다. (　　)
12. 가격이 300원일 때보다 400원일 때 X재의 거래량이 더 많다. (　　)
13. 가격이 300원일 때 판매 수입은 400원일 때보다 많다. (　　)
14. 정부가 최저 가격제를 시행하면서 가격을 300원으로 규제한다면 이는 실효성이 있는 정책이다. (　　)
15. 모든 가격 수준에서 공급량이 5개씩 증가할 때 균형 가격은 400원이다. (　　)
16. 시장 균형 가격에서 거래량은 25개 보다 많을 것이다. (　　)

▶ 정답 및 해설

1. O
2. X – 공급 곡선이 좌측으로 이동
3. X – 세금 부과 전 1,000원에서 세금 부과 후 960원으로 총 판매액은 감소
4. X – 시장 가격은 100원에서 120원으로 상승
5. X – 20원 상승하였음
6. O – 120원에 판매되나 30원의 세금을 납부하게 되므로 상품 1개당 판매 수입은 90원이 됨
7. O
8. O
9. O
10. O – 사회적 잉여는 시장 균형 가격에서 극대화 됨
11. X – 초과 수요량이 25개
12. X – 300원일 때 25개가 거래되고, 400원일 때 20개가 거래됨
13. X – 가격이 300원일 때의 판매 수입은 7,500원, 가격이 400원일 때의 판매 수입은 8,000원
14. X – 시장 균형 가격보다 최저 가격을 더 낮게 설정하였으므로 실효성이 없음
15. X – 모든 가격 수준에서 공급량이 5개씩 증가할 때 균형 가격은 300원
16. O – 시장 균형 가격에서 거래량은 최대가 되므로 위의 표에서 최대 거래량인 25개보다는 많을 것을 추론할 수 있음

가격 탄력성

※ 다음 표는 가격이 10% 상승했을 때 나타나는 수요량의 변화율을 나타낸 것이다. 이에 대한 설명으로 옳은 것은 O, 옳지 않은 것은 X를 하시오. (1~7)

구분	A재	B재	C재	D재	E재
수요량의 변화율(%)	5	0	-3	-10	-12

1. A재와 B재는 수요 법칙의 예외가 나타나고 있다. (　　)
2. B재는 가격에 대하여 비탄력적인 재화이다. (　　)
3. 가격이 10% 상승할 경우 C재의 판매 수입은 증가하지만, E재의 판매 수입은 감소한다. (　　)
4. D재의 판매 수입은 변화가 없다. (　　)
5. A재는 가격이 10% 상승할 경우 판매 수입도 10% 증가한다. (　　)
6. B재는 가격 상승률과 판매 수입 증가율이 동일한 재화이다. (　　)
7. C재보다 D재가 가격에 대한 수요량이 더 민감하다. (　　)

※ 다음 표는 가격이 10% 상승했을 때 나타나는 판매 수입의 변화율을 나타낸 것이다. 이에 대한 설명으로 옳은 것은 O, 옳지 않은 것은 X를 하시오. (8~15)

구분	A재	B재	C재	D재	E재
판매 수입의 변화율(%)	15	10	3	0	-5

8. A재는 가격이 상승하였음에도 불구하고 수요량이 증가한 경우이다. (　　)
9. B재는 완전 비탄력적인 재화이다. (　　)
10. C재는 탄력적인 재화이다. (　　)
11. D재는 탄력성 계수가 1인 단위 탄력적인 재화이다. (　　)
12. E재는 비탄력적인 재화이다. (　　)
13. 생활 필수품은 C재, 사치품은 E재에 해당한다. (　　)
14. E재를 생산하는 기업의 입장에서 판매 수입을 증가시키기 위해서는 가격을 하락하는 것이 유리하다. (　　)
15. B재는 탄력성 계수가 1이다. (　　)
16. 주유소에서 휘발율를 정액으로 구매하는 경우 휘발유는 D재에 해당한다. (　　)
17. 주유소에서 항상 20L만큼 주유를 하는 트럭 기사의 경유는 B재에 해당한다. (　　)

▶ 정답 및 해설

1. O - 가격이 상승했음에도 수요량이 감소하지 않았으므로
2. X - 완전 비탄력적
3. O - C재는 비탄력적, D재는 탄력적 재화
4. O - 단위 탄력적인 재화이므로
5. X - 10%보다 더 많이 증가
6. O - 완전 비탄력적인 재화
7. O
8. O - 수요법칙의 예외에 해당
9. O - 가격 상승률과 판매수입 증가율이 동일하므로
10. X - 가격이 10% 상승했을 때 판매수입이 증가하였으므로 비탄력적인 재화
11. O - 단위 탄력적인 재화는 가격 상승에도 불구하고 판매수입의 변화가 없음
12. X - 탄력적인 재화
13. O
14. O - 탄력적인 재화는 가격이 하락했을 때 판매수입이 증가
15. X - 완전 비탄력적인 재화는 탄력성 계수가 0
16. O - 정액 구매의 경우 단위 탄력적인 재화가 됨
17. O - 정량 구매는 완전 비탄력적

※ 다음 그림은 X재와 Y재 시장을 나타낸 것이다. 이에 대한 설명으로 옳은 것은 O, 옳지 않은 것은 X를 하시오. (16~20)

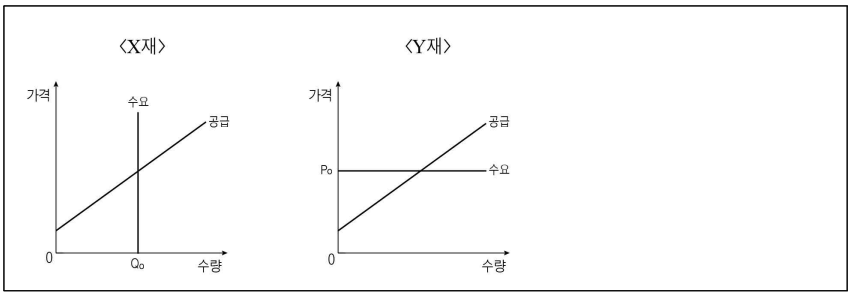

18. X재의 수요가 감소하면 X재 생산자 잉여는 감소한다. (　　)

19. X 재의 수요가 증가하더라도 X재 생산자 잉여는 변화가 없다. (　　)

20. X재의 공급이 감소해도 X재 생산자 잉여는 변함이 없다. (　　)

21. Y재의 공급이 감소하면 Y재 생산자 잉여는 증가한다. (　　)

22. Y재의 공급이 증가하면 Y재 소비자 잉여는 감소한다.(　　)

23. X재의 수요 곡선은 완전 비탄력적이다. (　　)

24. Y재의 수요 곡선은 완전 탄력적이다. (　　)

▶ 정답 및 해설

18. O - X재의 수요가 감소하면 수요 곡선이 좌측으로 이동되고 이로 인하여 생산자 잉여는 감소
19. X - X재의 수요가 증가하면 수요 곡선이 우측으로 이동되고 이로 인하여 생산자 잉여는 증가
20. O - X재의 공급이 감소해도 생산자 잉여는 변함이 없다. 그래프를 좌측으로 이동해서 생산자 잉여를 확인하면 변함이 없음을 알 수 있음
21. X - Y재의 공급이 감소하면 Y재 생산자 잉여는 감소
22. X - Y재의 수요 곡선이 수평이기 때문에 Y재 소비자 잉여는 없음
23. O
24. O

사회적 잉여

※ 다음 표에 대한 설명으로 옳은 것은 O, 옳지 않은 것은 X를 하시오. (1~7)

소비자	갑	을	병	정	무
지불하고자 하는 최대 금액(만 원)	10	20	30	40	50
생산자	**A**	**B**	**C**	**D**	**E**
받고자 하는 최소 금액(만 원)	70	60	50	40	30

※ X재 시장 참여자는 제시된 소비자와 생산자가 전부이며, 모든 소비자와 생산자는 각각 1개씩만 거래하고자 한다.

1. 가격이 10만 원일 때 수요량은 5개이고, 가격이 70만원일 때 공급량은 5개이다. ( )
2. 시장가격은 30만 원이고, 거래량은 2개이다. ( )
3. 거래에 참여하는 소비자는 갑, 을이고 생산자는 A, B이다. ( )
4. 생산자 잉여는 10만 원이다. ( )
5. 소비자 잉여는 20만 원이다. ( )
6. 사회적 잉여는 20만 원이다. ( )
7. 소비자 정, 무와 생산자 D, E에게 잉여가 발생한다.. ( )

※ 그림은 공급 변화에 따른 X재 시장의 변화를 나타낸 것이다. 이에 대한 설명으로 옳은 것은 O, 옳지 않은 것은 X를 하시오. (8~17)

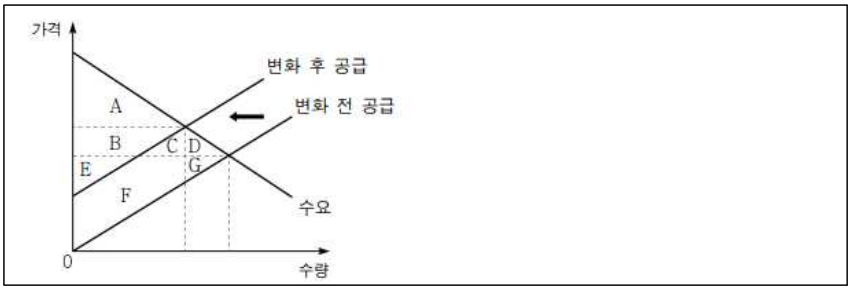

8. 변화 전 소비자 잉여는 A+B+C+D이다. ( )
9. 변화 전 생산자 잉여는 E+F+G이다. ( )
10. 변화 전 사회적 잉여는 A+B+C+D+E+F+G이다. ( )
11. 생산자 잉여는 A 만큼 감소했다. ( )
12. 소비자 잉여는 B+E 만큼 감소했다. ( )
13. 사회적 잉여는 D+G 만큼 감소했다. ( )
14. X재의 원자재 가격 하락은 위 그래프의 변화 요인이다. ( )
15. X재의 대체재 가격 상승은 위 그래프의 변화 요인이다. ( )
16. A는 변화 전, 후 모두 소비자 잉여에 포함된다. ( )
17. 균형 가격은 상승했고, 균형 거래량은 감소했다. ( )

▶ 정답 및 해설

가격 (만 원)	10	20	30	40	50	60	70
수요량 (개)	5	4	3	2	1	0	0
공급량 (개)	0	0	1	2	3	4	5

1. O
2. X – 시장 가격은 40만 원이고, 거래량은 2개
3. X – 거래에 참여하는 소비자는 갑과 을이고, 생산자는 D, E
4. O
5. X – 10만 원의 소비자 잉여 발생
6. O
7. X – 소비자 무와 생산자 E에게만 잉여가 발생

구분	변화 전	변화 후
소비자 잉여	A + B + C +D	A
생산자 잉여	E + F + G	B + E

8. O
9. O
10. O
11. X – 생산자 잉여는 B+E 만큼 감소
12. X – 소비자 잉여는 B+E 만큼 감소
13. X – 사회적 잉여는 C+D+F+G 만큼 감소
14. X – 원자재 가격 하락은 공급 증가 요인
15. X – 대체재 가격 상승은 수요 증가 요인
16. O
17. O

가격 규제 정책

※ 다음은 정부의 가격 규제 정책에 대한 설명이다. 다음 설명 중 옳은 것은 O, 옳지 않은 것은 X를 하시오. (1~9)

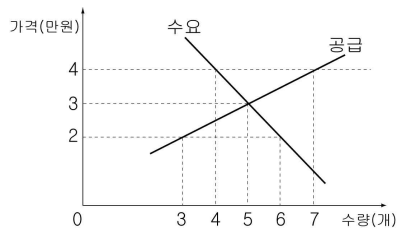

1. 최고 가격제란 정부가 시장 가격이 너무 높다고 판단하여 시장 균형 가격보다 낮은 수준에서 가격 상한선을 정하고, 이를 초과하는 가격 수준에서 거래하지 못하도록 규제하는 정책이다. (　　)
2. 정부가 가격을 4만 원으로 최저 가격을 설정할 경우 초과 수요가 발생한다. (　　)
3. 정부가 가격을 4만 원으로 최저 가격을 설정하는 것은 공급자를 보호하기 위한 것이다. (　　)
4. 정부가 최저 가격을 4만 원으로 규제할 경우 거래량은 4개가 된다. (　　)
5. 정부의 가격 규제로 인해 암시장이 형성될 수 있다. (　　)
6. 정부가 가격을 2만 원으로 최저 가격을 설정할 경우 거래 가격은 2만 원을 초과할 수 없다. (　　)
7. 정부가 가격을 2만 원으로 최저 가격을 설정할 경우 거래량은 3개가 된다. (　　)
8. 최저 가격제와 최고 가격제는 모두 암시장이 형성될 수 있다. (　　)
9. 정부가 최저 가격으로 4만 원으로 규제하더라도 시장 가격이 4만원 아래로 떨어지면 최저 가격 규제 정책은 실효성이 사라진다. (　　)

※ 밑줄 친 정책의 실시로 인해 나타날 변화에 대한 설명으로 옳은 것은 O, 옳지 않은 것은 X를 하시오. (10~16)

갑국의 노동 시장은 현재 E 점에서 균형을 이루고 있는데, <u>정부는 최저 임금을 W_1 수준에서 설정</u>하고자 한다.

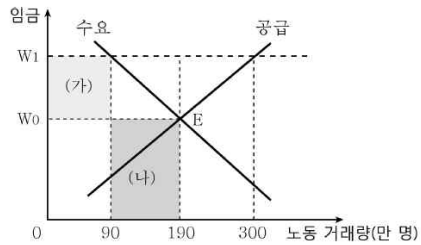

10. 노동시장에서 사업자를 보호하기 위한 정책이다. (　　)
11. 기존의 근로자 중 100만 명의 해고자가 발생한다. (　　)
12. 실업자가 110만 명 증가한다. (　　)
13. 새롭게 노동 시장에 진입하여 실업자가 되는 사람이 100만 명 있다. (　　)
14. 노동 시장에서 초과 수요가 발생한다. (　　)
15. (가)가 (나)보다 작으면, 기업의 인건비 지출은 증가한다. (　　)
16. 정책 시행 전의 모든 취업자가 임금 상승의 혜택을 보는 것은 아니다. (　　)

▶ 정답 및 해설

1. O
2. X – 초과 공급이 발생
3. O
4. O
5. O
6. X– 최저 가격보다 시장 가격이 높아 시장 가격으로 거래가 이루어짐
7. X – 거래량은 5개
8. O
9. X – 최저 가격 이상으로 시장 가격이 높아지면 최저 가격 규제 정책의 실효성이 사라짐
10. X – 공급자인 노동자를 보호하기 위한 정책
11. O
12. X – 210만 명 증가
13. X – 110만 명
14. X – 초과 공급이 발생
15. X – (가)가 (나)보다 작으면, 기업의 인건비 지출은 감소
16. O

경쟁 형태에 따른 시장 분류

※ 다음은 경쟁 형태에 따른 시장 분류를 나타낸 것이다. 다음 설명 중 옳은 것은 O, 옳지 않은 것은 X를 하시오. (1~20)

구분	A	B	C	D
진입 장벽	없음	거의 없음	높음	매우 높음
경쟁 정도	← 경쟁이 심해짐		경쟁이 약해짐 →	

1. A 시장은 기업이 상품 가격을 결정하는 시장이다. (　　)
2. A 시장은 일물일가(一物一價)의 법칙이 적용된다. (　　)
3. A 시장은 동질의 상품만 거래될 뿐, 이질적인 상품은 거래되지 않는다. (　　)
4. A 시장은 경제학에서 가정하는 가장 이상적인 시장이다. (　　)
5. A 시장의 종류로는 음식점, 주유소, 미용실 등이 있다. (　　)
6. B 시장은 상품 차별화가 이루어지는 시장이다. (　　)
7. B 시장은 진입 장벽은 낮으나, 장치 산업(규모의 경제)으로 초기 자본이 많이 든다. (　　)
8. B 시장은 이윤 극대화를 위해서 제품의 가격보다는 품질 차별화, 디자인, 서비스 등의 비가격 경쟁에 치중한다. (　　)
9. B 시장은 사회의 희소한 자원이 가장 효율적으로 배분되는 이상적인 시장이다. (　　)
10. B 시장의 소비자들은 완전 경쟁 시장보다 높은 가격을 지불해야 하는 단점이 있다. (　　)
11. B 시장은 소비자 잉여가 가장 큰 시장이다. (　　)
12. C 시장은 공급자와 수요자가 정보의 완전성으로 시장에 대한 정보를 획득하는 비용이 0이다. (　　)
13. C 시장은 소수의 기업이 서로 경쟁하면서 한 상품을 생산·공급하는 시장으로 동질 또는 이질의 상품이 거래된다. (　　)
14. B 시장은 C 시장과 달리 개별 기업은 시장 가격에 전혀 영향을 미칠 수 없다. (　　)
15. 자동차, 통신사, 정유소 등은 C 시장의 종류이다. (　　)
16. C 시장에서는 개별 재화에 좋은 대체재가 될 수 있는 재화가 존재하지 않는다. (　　)
17. D 시장에서는 공급자가 가격 설정자로서의 지위를 갖는다. (　　)
18. D 시장에서는 이윤 증대를 위해 담합(카르텔)을 하는 경우가 많다. (　　)
19. D 시장에서는 가격 차별화 정책이 가능하다. (　　)
20. B 시장과 C 시장에서는 동질적인 상품 뿐만 아니라 이질적인 상품도 거래된다. (　　)

▶ 정답 및 해설

A는 완전 경쟁 시장, B는 독점적 경쟁 시장, C는 과점 시장, D는 독점 시장

1. X – 완전 경쟁 시장은 가격 수용자로서 시장에서 결정된 가격으로 소비와 생산이 결정됨
2. O
3. O
4. O
5. X – 독점적 경쟁 시장의 종류이고, 완전 경쟁 시장의 종류로는 주식 시장과 농수산물 시장 등이 있음
6. O
7. X – 장치 산업(규모의 경제)으로 초기 자본이 많이드는 것은 과점 시장
8. O – 전체 문화와 대립되는 가치를 추구하기 때문
9. X – 사회의 희소한 자원이 가장 효율적으로 배분되는 이상적인 시장은 완전 경쟁 시장
10. O
11. X – 완전 경쟁 시장이 소비자 잉여가 가장 큼
12. X – 완전 경쟁 시장에서 정보의 완전성이 나타남
13. O
14. X – 독점적 경쟁 시장에서도 독점적 요소로 인해 개별 기업이 시장 가격에 영향을 미침
15. O
16. X – 과점 시장에서도 좋은 대체재는 존재함. 가령 석유에 대하여 천연가스나 석탄이 대체재가 됨
17. O
18. X – 담합(카르텔)은 과점 시장에서 나타남
19. O
20. O

시장 실패 - 독점 시장, 외부 효과

※ 다음은 독점 기업이 지배하는 시장에서 거래되는 어떤 재화의 가격 변동의 모습을 나타낸 것이다. 이에 대한 설명 중 옳은 것은 O, 옳지 않은 것은 X를 하시오. (1~6)

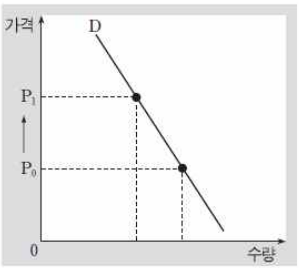

1. 시장 거래량이 감소한다. (　　)
2. 시장 가격은 P_1에서 결정되므로 이전보다 높아진다. (　　)
3. 완전 경쟁 시장에 비해 가격은 높아지고, 생산량은 줄어들어 자원이 비효율적으로 배분된다. (　　)
4. 소비자 잉여가 증가한다. (　　)
5. 수요와 공급의 불균형이 발생한다. (　　)
6. 수요자가 지출하는 총액이 감소한다. (　　)

※ 다음은 외부 효과에 대한 대책 실시 후 변화된 모습이다. 다음 설명 중 옳은 것은 O, 옳지 않은 것은 X를 하시오. (7~14)

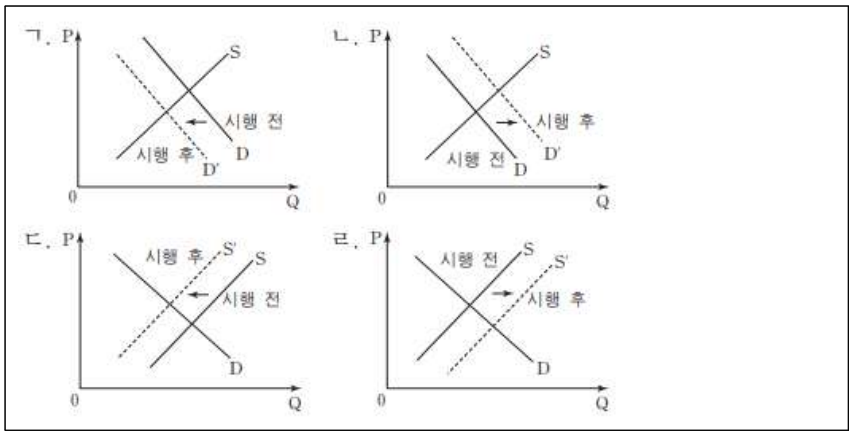

7. ㄱ은 외부 불경제의 소비 측면이고, ㄴ은 외부 경제의 소비 측면이다. (　　)
8. ㄷ은 외부 불경제의 생산 측면이고, ㄹ은 외부 경제의 생산 측면이다. (　　)
9. ㄱ과 ㄷ은 타인에게 의도하지 않은 이익을 주고도 이에 대한 대가를 받지 않는 상태를 말한다. (　　)
10. ㄴ과 ㄹ은 사회적 최적 수준보다 많은 수준에서 생산·소비되는 경우이다. (　　)
11. 외부 불경제 생산 측면은 사적 비용이 사회적 비용보다 많아 과소 생산된다는 문제점이 있다. (　　)
12. 독감 백신 접종은 ㄴ의 사례이다. (　　)
13. 길거리 흡연은 ㄷ의 사례이다. (　　)
14. 보조금 지급으로 ㄹ의 모습으로 변화시킬 수 있다. (　　)

▶ 정답 및 해설

1. O
2. O
3. O
4. X - 가격 수준이 높아짐에 따라 소비자 잉여는 완전 경쟁 시장보다 작아짐
5. O
6. X - 수요자가 지출하는 총액은 증가
7. O
8. O
9. X - 외부 불경제에 해당
10. X - ㄴ과 ㄹ은 외부 경제에 해당하므로 사회적 최적부도 적은 수준에서 생산·소비되는 경우
11. X - 사적 비용이 사회적 비용보다 작아 과다 생산됨
12. O
13. X - ㄱ인 외부 불경제 소비 측면의 사례
14. O

※ 다음은 외부 효과에 대한 것이다. 다음 설명 중 옳은 것은 O, 옳지 않은 것은 X를 하시오. (15~23)

A - 사회적 비용<사적 비용
B - 사회적 편익>사적 편익
C - 사회적 비용>사적 비용
D - 사회적 편익<사적 편익

15. A는 외부 경제의 생산 측면이고, C는 외부 불경제의 생산 측면이다. (　　)

16. B는 외부 불경제의 소비 측면이고, D는 외부 경제의 소비 측면이다. (　　)

17. 환경오염은 A의 예에 해당한다. (　　)

18. 외부 경제와 달리 외부 불경제는 시장 실패의 유형이다. (　　)

19. A와 B는 과소생산과 과소소비가 문제가 되고, C와 D는 과다생산과 과다소비가 문제된다. (　　)

20. 생산자에 대한 세금 부과는 C의 해결책이 될 수 있다. (　　)

21. A~D는 모두 자원이 효율적으로 배분되지 않는 사례들이다. (　　)

22. 특허권을 부여하는 것은 C를 해결하기 위한 대책이 될 수 있다. (　　)

23. C와 D는 타인에게 의도하지 않은 손해를 주고도 이에 대한 대가를 지불하지 않는 상태에 해당한다. (　　)

▶ 정답 및 해설

15. O
16. X - 순서가 바뀜
17. X - C에 해당
18. X - 모두 시장 실패의 유형
19. O
20. O
21. O
22. X - 특허권 부여는 외부 경제 생산 측면의 대책
23. O

시장 실패 - 공공재, 정보의 비대칭성

※ 다음의 표를 보고 설명 중 옳은 것은 O, 옳지 않은 것은 X를 하시오. (1~19)

구분		A	
		있다	없다
B	있다	(가)	공유 자원
	없다	(나)	(다)

1. A는 경합성, B는 배제성이 들어간다. (　　)
2. (가)는 사적 재화, (나)는 요금제 상품, (다)는 공공재라고 들어간다. (　　)
3. (가)의 사례로 인터넷 유료 강의가 있다. (　　)
4. (다)는 무임 승차자의 소비를 막을 수 없는 속성을 지닌다. (　　)
5. (다)는 사회적 최적 수준보다 과다 생산된다. (　　)
6. 케이블 TV는 (나)의 예에 해당한다. (　　)
7. 주인 없는 야생 산딸기는 (다)의 예에 해당한다. (　　)
8. (다)는 시장에서 충분히 공급되지 않는다. (　　)
9. (가)에 해당되는 재화는 대가를 지불하지 않아도 소비할 수 있다. (　　)
10. 공유 자원은 남용에 의해 고갈되기 쉽다. (　　)
11. (나)에 해당되는 재화는 사적으로 소유할 수 없다. (　　)
12. (다)에 해당되는 재화는 한 사람의 소비가 다른 사람의 소비 가능성을 감소시킨다. (　　)
13. (나)와 (다)에 해당되는 재화는 무임승차의 문제가 발생한다. (　　)
14. (다)는 주로 정부에 의해 공급된다. (　　)
15. (나)는 공유지의 비극 현상이 나타날 수 있는 재화이다. (　　)
16. (다)에 해당하는 재화로는 공해상의 물고기를 들 수 있다. (　　)
17. (가)와 달리 (다)는 시장에서 최적 수준에 비해 최소 생산된다. (　　)
18. 막히지 않는 유료도로는 (나)의 예에 해당한다. (　　)
19. 국방과 치안 서비스는 (가)의 예에 해당한다. (　　)

※ 다음은 정보의 비대칭성에 대한 설명이다. 옳은 것은 O, 옳지 않은 것은 X를 하시오. (20~23)

20. 건강이 좋지 않아 보험 혜택을 받을 가능성이 높은 사람들만 보험에 가입하게 되는 것은 정보의 비대칭성으로 인한 시장 실패 사례이다. (　　)
21. 정보의 비대칭성에는 역선택과 도덕적 해이가 있다. (　　)
22. 소비자가 중고 제품 시장에서 외형만을 보고 불량품을 구매하는 것은 정보의 비대칭성 중 도덕적 해이에 해당한다. (　　)
23. 피보험자가 자신의 건강 관리를 하지 않거나 위험을 회피하지 않는 것은 정보의 비대칭성 중 역선택에 해당한다. (　　)

▶ 정답 및 해설

1. X - 공유자원은 배제성은 없고 경합성은 있으므로 A는 배제성, B는 경합성
2. O
3. X -(나)의 사례에 해당
4. O
5. X - 과소 생산
6. O
7. X - 공유 자원에 해당
8. O
9. X - 배제성이 있으므로 대가를 지급해야 소비 가능
10. O
11. X - 사적으로 소유 가능
12. X - 경합성이 없으므로 다른 사람의 소비 가능성을 감소시키지 않음
13. X - 공유자원과 (다)의 경우 무임승차의 문제가 발생
14. O
15. X - 공유지의 비극은 공유 자원에서 나타남
16. X - 공유 자원에 해당
17. O
18. O
19. X - (다)에 해당
20. O
21. O
22. X - 역선택
23. X - 도덕적 해이

제4단원 국민 경제의 이해

국내 총생산(GDP)

※ 다음 표는 갑국에서 1년간 발생한 모든 생산 활동을 정리한 것이다. 이에 대한 설명 중 옳은 것은 O, 옳지 않은 것은 X를 하시오. (1~5) (2019 3월 모의)

생산물	총생산액 (만 달러)	생산물 거래 내역
밀	200	전량 밀가루의 원료로 판매됨.
우유	330	1/3은 빵의 원료로 판매되고, 2/3는 소비자에게 판매됨.
밀가루	300	1/2은 빵의 원료로 판매되고, 1/2은 소비자에게 판매됨.
빵	440	전량 소비자에게 판매됨.

* 동일한 생산물은 동일한 가격으로 판매됨.

1. 최종 생산물은 빵뿐이다. (　　)
2. 국내 총생산은 810만 달러이다. (　　)
3. 밀가루는 중간 생산물로만 사용되었다. (　　)
4. 빵 생산에서 발생한 부가 가치가 가장 크다. (　　)
5. 우유 생산에서 발생한 부가 가치는 20만 달러이다. (　　)

※ 다음 그림은 GNP와 GDP의 관계를 나타낸 것이다. 이에 대한 설명 중 옳은 것은 O, 옳지 않은 것은 X를 하시오. (6~15)

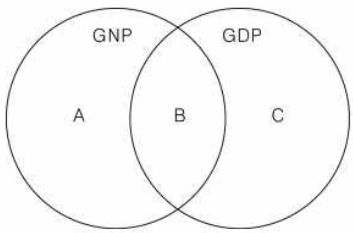

6. 토트넘의 손흥민 선수가 받는 연봉은 A에 해당한다. (　　)
7. 한국에서 근무하는 네팔 노동자의 임금은 C에 해당한다. (　　)
8. GDP는 자국민의 경제 활동 수준을 반영하는 지표이다. (　　)
9. 외국에 생산요소를 제공한 대가로 받은 것은 C에 해당한다. (　　)
10. 폐쇄 경제하에서는 B만 존재한다. (　　)
11. GDP는 GNP보다 소득 분배 상황을 잘 나타낸다. (　　)
12. 미국에서 소고기를 수입하기 위해 지출한 금액은 GDP에 포함된다. (　　)
13. 각 생산 단계에서 창출된 부가 가치의 합은 A에 해당한다. (　　)
14. B+C는 소득 분배를 파악하기 쉽지만, 국민의 삶의 질을 측정하기 어렵다는 단점이 있다. (　　)
15. B+C는 한 나라 국가 경제의 전반적인 생산 수준을 측정하는데 유용하다. (　　)

▶ 정답 및 해설

1. X – 우유와 밀가루, 빵이 최종 생산물
2. O – 최종 생산물은 우유 2/3, 밀가루 1/2, 빵 전량이며, 그 금액은 각각 220만 달러, 150만 달러, 440만 달러이므로 이를 합한 810만 달러가 갑국의 국내 총생산
3. X – 밀가루의 1/2은 최종 생산물로 사용됨
4. X – 우유 생산을 통하여 330만 달러의 부가가치가 발생하였고, 빵은 180만 달러의 부가가치가 발생
5. X – 330만 달러의 부가가치가 발생
6. O
7. O
8. O
9. X – A에 해당
10. O
11. X – GDP와 GNP는 모두 소득 분배 상황을 나타내지 못하는 한계가 있음
12. X – 수입의 경우 GDP에 합산되지 않음
13. X – C에 해당
14. X – 소득 분배도 파악하기 어려움
15. O

명목 GDP와 실질 GDP / GDP 디플레이터

※ 다음 표를 보고 이에 대한 설명 중 옳은 것은 O, 옳지 않은 것은 X를 하시오. (1~8)

<1년 동안 신발만 생산하는 경우, 기준연도 2017년>

연도 ＼ 구분	신발 생산량	신발 판매 가격
2017	100개	200원
2018	100개	400원
2019	200개	400원

경제성장률(%)=[(금년도 실질GDP-전년도 실질GDP)/전년도 실질GDP]×100
물가수준은 GDP 디플레이터로 나타냄

1. 기준연도의 명목 GDP와 실질 GDP는 동일하다. (　　)
2. 기준연도의 GDP 디플레이터는 100이다. (　　)
3. 명목 GDP는 매년 100%씩 증가하였다. (　　)
4. 2018년의 물가 상승률과 2019년의 물가 상승률은 동일하다. (　　)
5. 2018년 경제성장률은 100%이다. (　　)
6. 2019년 경제성장률은 200%이다. (　　)
7. 2017년과 2018년의 실질 GDP는 동일하다. (　　)
8. 2019년 실질 GDP는 40,000원이다. (　　)

표는 갑국의 연도별 명목 GDP 증가율과 물가 상승률을 나타낸다. 이에 대한 설명 중 옳은 것은 O, 옳지 않은 것은 X를 하시오. (9~16)

기준 연도는 2015년이며, 물가 수준은 GDP 디플레이터로 측정한다.
(단위 : 전년 대비 %)

구분	2016년	2017년	2018년	2019년	2020년
명목 GDP 증가율	2.4	5.5	3.2	-2.0	0.1
물가 상승률	3.5	4.4	-1.0	1.2	0.2

9. 2016년의 GDP 디플레이터는 100보다 작다. (　　)
10. 2016년의 실질 GDP는 2015년보다 증가하였다. (　　)
11. 2015년의 실질 GDP는 2017년의 실질 GDP보다 크다. (　　)
12. 2018년의 GDP 디플레이터의 값은 2017년보다 크다. (　　)
13. 2019년의 실질 GDP는 2018년보다 감소하였다. (　　)
14. 경제 성장률이 가장 높은 해는 2017년이다. (　　)
15. 2017년과 2020년에는 모두 전년보다 GDP 디플레이터의 값이 커졌다 (　　)
16. 경제 성장률은 명목 GDP 증가율에서 물가 상승률을 뺀 값이다. (　　)

▶ **정답 및 해설**

연도 ＼ 구분	명목 GDP	실질 GDP
2017	20,000	20,000
2018	40,000	20,000
2019	80,000	40,000

1. O - 기준연도의 명목 GDP와 실질 GDP는 동일
2. O
3. O
4. X - 2018년의 물가 상승률은 100%이지만, 2019년의 물가 상승률은 0%
5. X - 2017년과 2018년의 실질 GDP는 동일하므로 2018년 경제성장률은 0%
6. X - 2019년의 실질 GDP는 40,000이고, 2018년의 실질 GDP는 20,000이므로 2019년 경제성장률은 100%
7. O
8. O

구분	2016년	2017년	2018년	2019년	2020년
명목 GDP 증가율	2.4	5.5	3.2	-2.0	0.1
물가 상승률	3.5	4.4	-1.0	1.2	0.2
실질 GDP 증가율	-1.1	1.1	5.2	-3.2	-0.1

9. X - 물가 상승률이 양(+)의 값을 가지므로 100보다 큼
10. X - -1.1%이므로 감소
11. O - 변화율의 비대칭성으로 인해 2015년의 실질 GDP가 더 큼
12. X - 2018년의 물가 상승률이 마이너스이므로 더 작음
13. O
14. X - 2018년이 실질 GDP 증가율이 가장 높음
15. O - 물가 상승률이 양의 값
16. O

※ 다음 표를 보고 이에 대한 설명 중 옳은 것은 O, 옳지 않은 것은 X를 하시오. (17~24)

표는 갑국의 연도별 전년 대비 GDP 디플레이터 상승률과 명목 GDP 증가율을 나타낸다. 단, 기준 연도는 2015년이며, 물가 수준은 GDP 디플레이터로 측정한다.

(단위 : 전년 대비 %)

구분	2016년	2017년	2018년	2019년
GDP 디플레이터 상승률	3.1	0	-3.1	0
명목 GDP 증가율	3.1	2.2	0	-1.5

17. 2015년의 물가 수준은 2018년과 동일하다. (　　)

18. 2018년의 GDP 디플레이터는 100보다 작다. (　　)

19. 2017년과 2018년은 경제 성장률이 양(+)의 값을 가진다. (　　)

20. 2016년의 실질 GDP는 2015년과 같다. (　　)

21. 2019년의 실질 GDP는 전년보다 감소하였다. (　　)

22. 2017년의 물가 수준은 2019년보다 낮다. (　　)

23. 경제 성장률이 가장 높은 해는 2018년이다. (　　)

24. 갑국의 실질 GDP는 계속 증가하였다. (　　)

※ 표는 갑국의 연도별 명목 GDP와 실질 GDP를 나타낸다. 이에 대한 설명 중 옳은 것은 O, 옳지 않은 것은 X를 하시오. (25~31) (단, 기준 연도는 2016년이며, 물가 수준은 GDP 디플레이터로 측정한다.)

(단위 : 억 달러)

구분	2016년	2017년	2018년	2019년
명목 GDP	100	120	140	130
실질 GDP	120	120	130	140

25. 2017년의 경제 성장률은 100%이다. (　　)

26. 2017년의 물가 수준은 2016년보다 낮다. (　　)

27. 2018년의 물가 수준은 2017년보다 낮다. (　　)

28. 2018년의 전년 대비 물가 상승률은 음(-)의 값을 가진다. (　　)

29. 2019년의 경제 성장률과 전년 대비 물가 상승률은 모두 양(+)의 값을 가진다. (　　)

30. 2015년과 2017년의 물가 수준은 동일하다. (　　)

31. 2018년과 2019년의 물가 수준은 같다 (　　)

▶ 정답 및 해설

구분	2016년	2017년	2018년	2019년
GDP 디플레이터 상승률	3.1	0	-3.1	0
명목 GDP 증가율	3.1	2.2	0	-1.5
실질 GDP 증가율	0	2.2	3.1	-1.5

17. X - 변화율의 비대칭성으로 2015년의 물가 수준이 더 높음
18. O - 2018년의 GDP 디플레이터는 기준 연도의 GDP 디플레이터보다 3.1% 상승한 2016년의 GDP 디플레이터보다 3.1% 하락하였으므로 그 값이 100보다 작음
19. O - 실질 GDP 증가율이 양의 값이므로
20. O - 실질 GDP 증가율이 0
21. O - 실질 GDP 증가율이 음의 값
22. X - 2018년의 GDP 디플레이터는 2017년보다 3.1% 하락하였고, 2019년의 GDP 디플레이터는 2018년과 같으므로 2017년의 물가 수준은 2019년보다 높음
23. O - 실질 GDP 증가율은 경제 성장률을 의미
24. X - 2019년에는 감소함

구분	2016년	2017년	2018년	2019년
명목 GDP	100	120	140	130
실질 GDP	120	120	130	140
GDP 디플레이터	100↓	100	100↑	100↓

25. X - 실질 GDP의 증가율이 2017년의 경제 성장률이므로 0%
26. X - 높음
27. X - GDP 디플레이터가 2017년은 100이고 2018년은 100보다 크므로 물가 수준이 더 높음
28. X - 양(+)의 값을 가짐
29. X - 물가 상승률은 음(-)의 값을 가짐
30. O - 기준연도의 물가 수준은 100이고, 2017년의 물가 수준도 100
31. X - 동일하지 않음

실업

※ 다음은 유형별 실업의 원인과 대책을 나타낸 것이다. 이에 대하여 옳은 것은 O, 옳지 않은 것은 X를 하시오. [1~6]

유형	원인	대책
㉠	경기 침체	경기 부양책
구조적 실업	㉡	기술 교육
계절적 실업	계절에 따른 일자리 감소	㉢
㉣	좋은 일자리로 이동	㉤

1. ㉠은 경기적 실업, ㉣은 마찰적 실업에 해당한다. (　　)
2. ㉤에는 '취업 정보의 제공'이 들어갈 수 있다. (　　)
3. 모두 비자발적 실업에 해당한다. (　　)
4. 정부의 확대 재정 정책은 ㉠의 대책이 된다. (　　)
5. ㉡에는 산업 구조의 변화가 들어갈 수 있다. (　　)
6. 농공 단지의 건설은 ㉢에 들어갈 수 있다. (　　)

▶ 정답 및 해설

1. O
2. O
3. X – 마찰적 실업은 자발적 실업
4. O
5. O
6. O

고용 지표

※ 다음 표는 갑국의 고용 상황과 관련한 통계이다. 이에 대한 분석으로 옳은 것은 O, 옳지 않은 것은 X를 하시오. [1~8] (단, 2005년과 2015년의 만 15세 이상의 인구는 변함이 없다.) [2015 해양 경찰 변형]

구분	2005년	2015년
경제활동 참가율(%)	50	40
실업률(%)	5	4

* 고용률 = (취업자/만 15세 이상 인구) ×100

1. 경제활동 인구는 2005년보다 2015년에 증가하였다. (　　)
2. 2005년에 비해 2015년의 고용률은 증가하였다. (　　)
3. 취업자 수와 실업자 수를 합한 값이 경제활동 인구이다. (　　)
4. 실업률과 취업률을 합한 값은 100%가 된다. (　　)
5. 실업률이 상승하면 취업률은 하락한다. (　　)
6. 2005년에 비해 2015년의 실업자 수는 감소하였다. (　　)
7. 2015년은 취업자와 달리 실업자의 수는 감소하였다. (　　)
8. 2005년보다 2015년에는 구직 단념자의 수가 증가했다. (　　)

※ 다음 내용을 보고 A국의 고용 지표에 대한 설명으로 옳은 것은 O, 옳지 않은 것은 X를 하시오.(단, A국의 15세 이상 인구는 변하지 않았다.) [9~14]

ㅇ 취업 준비생들 중 회사 입사 시험에 지원하는 사람이 늘어나면서 비경제 활동 인구는 감소하고 실업자 수는 증가하였다.
ㅇ 기존 회사원들도 회사를 그만두고 공무원 임용 시험에 원서를 내고 응시하는 경우가 많아 취업자 수는 감소하고 실업자 수는 증가하였다.

9. 경제활동 참가율은 상승할 것이다. (　　)
10. 비경제활동 인구는 감소하였다. (　　)
11. 실업률은 상승할 것이다. (　　)
12. 취업률은 하락할 것이다. (　　)
13. 고용률은 상승할 것이다. (　　)
14. 노동 시장의 그래프에서 초과 수요의 상태가 증가할 것이다. (　　)

▶ 정답 및 해설

구분	2005년	2015년
만 15세 이상의 인구	1,000	1,000
경제활동 인구	500	400
비경제활동 인구	500	600
취업자 수	475	384
실업자 수	25	16
고용률	47.5	38.4

1. X - 감소
2. X - 만 15세 이상의 인구는 2005년과 2015년에 동일하고, 2015년의 취업자 수가 감소하였으므로 2015년의 고용률은 2005년에 비해 감소.(47.5%→38.4%)
3. O
4. O
5. O
6. O
7. X - 2015년에는 실업자보다 취업자의 수가 더 크게 감소
8. X - 비경제활동인구는 증가하였으나, 비경제활동인구에는 구직단념자뿐만 아니라 주부나 수험생, 학생 등도 포함되므로 주어진 자료만으로 구직단념자의 수를 정확하게 파악할 수는 없음
9. O - 취업자에서 실업자로 이동, 비경제활동인구에서 실업자로 이동하였으므로 경제활동 인구가 증가
10. O
11. O
12. O - 실업률은 상승, 취업률은 하락
13. X - 취업자 수가 감소하였고, 15세 이상 인구는 일정하므로 고용률은 하락
14. X - 초과 수요가 아니라 초과 공급이 증가. 노동 시장에서의 초과 공급은 실업을 의미하는데, 실업이 증가

※ 다음은 갑국의 고용 지표 내용을 보고 옳은 것은 O, 옳지 않은 것은 X를 하시오. (단, 갑국의 15세 이상 인구는 변하지 않았다.) [15~21]

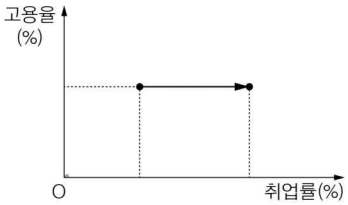

15. 취업자 수는 증가하였다. (　　)

16. 실업자 수는 감소하였다. (　　)

17. 실업률은 상승하였다. (　　)

18. 비경제활동 인구는 일정하다. (　　)

19. 경제 활동 참가율은 하락하였다. (　　)

20. 경제 활동 인구수는 증가하였다. (　　)

21. 취업자 수와 실업자 수는 모두 일정하다. (　　)

▶ 정답 및 해설

[고용률은 일정하고, 취업률이 상승하였으므로 경제 활동 인구는 감소, 취업자 수는 일정, 실업자 수는 감소, 비경제활동 인구는 증가]

15. X - 취업자 수는 일정
16. O
17. X - 취업률이 상승하였으므로 실업률은 하락
18. X - 비경제활동 인구는 증가
19. O
20. X - 감소
21. X - 취업자 수는 일정, 실업자 수는 감소

인플레이션

※ 다음은 인플레이션의 유형을 나타낸 것이다. 이에 대한 설명으로 옳은 것은 O, 옳지 않은 것은 X를 하시오. [1~16]

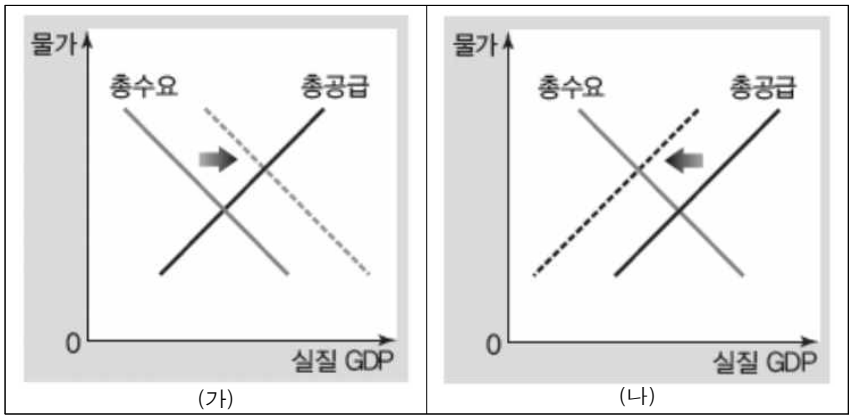

1. (가)는 수요 견인 인플레이션, (나)는 비용 인상 인플레이션을 나타낸다. (　　)
2. (나)는 주로 경기가 호황일 때 나타난다. (　　)
3. 수요 견인 인플레이션은 실질 GDP가 증가하지만, 비용 인상 인플레이션은 실질 GDP가 감소한다. (　　)
4. (가)는 스태그플레이션을 야기할 수 있다. (　　)
5. (가)의 경우 확대 재정 정책이 대책이 될 수 있다. (　　)
6. 기술 혁신, 경영 혁신 등을 통한 기업의 비용 절감은 (나)의 대책이 될 수 있다. (　　)
7. 수요 견인 인플레이션은 총수요 곡선이 우측으로 이동하고, 비용 인상 인플레이션은 총공급 곡선이 좌측으로 이동한다. (　　)
8. (가)는 경기 침체(불황)에도 불구하고 물가가 오히려 오르는 현상이다. (　　)
9. 인플레이션의 결과 화폐 자산 소유자, 채무자, 봉급·연금 생활자 등은 불리하다. (　　)
10. 환율이 일정할 때 인플레이션이 지속되면 수출은 증가하고 수입은 감소하여 경상수지는 개선된다. (　　)
11. 인플레이션이 지속되면 실질 임금이 하락하여 근로자의 근로 의욕은 저하된다. (　　)
12. 국제 원자재 가격의 상승은 (나)의 원인이 된다. (　　)
13. (가)는 민간 소비 증가를 발생 요인으로 들 수 있다. (　　)
14. (가)와 달리 (나)는 화폐의 실질 구매력이 낮아진다. (　　)
15. (나)의 상황이 지속되면 정부는 긴축 재정 정책을 하는 것이 효과적이다. (　　)
16. 인플레이션이 지속되면 일반적으로 실물 자산 소유자와 자영업자 등은 유리한 경제 주체에 해당한다. (　　)

▶ 정답 및 해설

1. O
2. X – 경기 호황일 때는 수요 견인 인플레이션이 주로 나타남
3. O
4. X – (나)의 경우 스태그플레이션을 야기할 수 있음
5. X – 긴축 재정 정책
6. O
7. O
8. X – (나)에 대한 설명
9. X – 채무자가 아니라 채권자가 불리
10. X – 수출은 감소하고 수입은 증가하여 경상수지는 악화
11. O
12. O
13. O
14. X – 둘다 물가 상승이 나타나므로 화폐의 실질 구매력이 낮아짐
15. X – 비용 인상 인플레이션은 경기 침체를 동반하므로 긴축 재정은 적절한 대책이 아니고, 수요 견인 인플레이션에서의 적절한 대책이 됨
16. O – 물가 상승의 혜택을 보므로

경기 변동 (총수요와 총공급의 변동)

※ 표의 A ~ D는 총수요와 총공급의 변동 상황을 나타낸다. 이에 대한 설명으로 옳은 것은 O, 옳지 않은 것은 X를 하시오. [1~13]

총공급 \ 총수요	증가	감소
증가	A	B
감소	C	D

1. 총수요는 민간 소비 + 민간 투자 + 정부 지출 + 수출로 구성된다. (　　)
2. 가계 소비와 기업 투자의 증가는 총수요 증가 요인이다. (　　)
3. A에서 실질 GDP는 증가하고 물가는 상승한다. (　　)
4. 소비와 투자가 위축되고, 기술 수준의 향상과 생산 비용 절감은 D의 요인이 된다. (　　)
5. B에서 물가 수준은 높아진다. (　　)
6. 정부 지출 감소와 생산 비용 증가는 C의 요인이다. (　　)
7. 소비 지출 증가와 생산성 향상은 D의 요인이다. (　　)
8. D의 경우 물가는 알 수 없지만, 실질 GDP는 감소한다. (　　)
9. 총수요의 변동이 원인이 되어 일어나는 경기 변동의 경우 물가와 실질 GDP가 같은 방향으로 이동하는 특징이 있다. (　　)
10. 총공급의 변동이 원인이 되어 일어나는 경기 변동의 경우 물가와 실질 GDP가 같은 방향으로 이동하는 특징이 있다. (　　)
11. 총수요는 일정하고 총공급이 감소할 경우 스태그플레이션이 발생할 수 있다. (　　)
12. D의 경우 물가 수준은 높아진다. (　　)
13. B에서 총수요의 감소가 총공급의 증가보다 훨씬 큰 경우 물가 수준은 하락하고, 국내 총생산은 감소한다. (　　)

▶ 정답 및 해설

1. X – 총수요는 민간 소비 + 민간 투자 + 정부 지출 + 순수출(수출 – 수입)으로 구성
2. O
3. X – 수요와 총공급이 증가하면 실질 GDP는 증가하지만 물가 수준은 알 수 없음
4. X – D의 요인
5. X – 총수요가 감소하고 총공급이 증가하면 물가 수준은 낮아짐
6. X – 정부 지출 감소는 총수요 감소, 생산 비용 증가는 총공급 감소의 요인
7. X – A의 요인
8. O
9. O
10. X – 반대 방향
11. O
12. X – 물가 수준은 알 수 없음
13. O

경제 안정화 정책

※ 표는 경기 상황별 경제 안정화 정책을 정리한 것이다. 이에 대한 설명으로 옳은 것은 O, 옳지 않은 것은 X를 하시오. [1~14]

구분	경기 침체	경기 과열
정부의 재정 정책	(가)	(나)
중앙은행의 통화 정책	(다)	(라)

1. 수요 견인 인플레이션이 발생할 경우 (나)와 (라)의 대책이 효과적이다. (　　)
2. (가)와 (다)는 긴축 정책, (나)와 (라)는 확대 정책이라고 한다. (　　)
3. (나)에는 '세율 인하'가 들어갈 수 있다. (　　)
4. (가)에는 '국공채 매입'이 들어갈 수 있다. (　　)
5. (가), (다)는 모두 통화량을 감소시키는 요인이다. (　　)
6. (가), (나)와 달리 (다), (라)는 총수요를 변동시키는 요인이다. (　　)
7. (가)의 경우 정부는 일반적으로 실업률을 낮추려는 정책을 실시한다. (　　)
8. 정부는 (가) 상황에 대응하기 위해 정부 지출을 줄이고 세율을 인하한다. (　　)
9. 중앙은행은 (다)를 위해 국·공채를 매각한다. (　　)
10. 중앙은행이 (다)에 성공한다면 물가 상승률은 높아질 것이다. (　　)
11. 중앙은행의 지급 준비율 인하는 (다)에 들어갈 수 있다. (　　)
12. (가)로 인해 일반적으로 국내 가계의 처분 가능 소득은 증가한다. (　　)
13. 정부가 저소득층에 대한 지원을 늘리는 것은 (가)에 해당한다. (　　)
14. (라)에는 재할인율 인하, 지급 준비율 인상, 국공채 매각 등을 들 수 있다. (　　)

▶ 정답 및 해설

1. O
2. X – 순서가 바뀜
3. X – 세율 인상
4. X – 국·공채 매입은 중앙은행의 통화 정책이므로 (다)에 들어감
5. X – (가), (다)는 모두 경기를 부양하기 위해서 시중에 통화량을 증가시키는 요인
6. X – (가), (나) 뿐만 아니라 (다), (라)는 모두 총수요를 변동시키는 요인
7. O
8. X – 세율 인하는 맞지만, 정부 지출은 확대함
9. X – 매입
10. O – 정부 지출 확대로 시중에 통화량이 증가하므로
11. O
12. O – 세율 인하로 처분 가능 소득은 증가
13. O
14. X – 긴축 통화 정책의 사례로 재할인율 인상, 지급 준비율 인상, 국공채 매각 등을 들 수 있음

5단원 세계 시장과 한국 경제

비교 우위

※ 다음 표를 옳은 것은 O, 옳지 않은 것은 X를 하시오. [1~9]

<X재와 Y재 1단위 생산에 필요한 노동량>

(단위 : 명)

구분	갑국	을국
X재	10	6
Y재	5	4

* 교역 시 양국은 비교 우위에 있는 재화에 특화함

1. 갑국은 X재와 Y재 생산에 모두 절대 우위를 가진다. (　　)
2. 갑국의 X재 1단위 생산에 대한 기회비용은 Y재 2단위이다. (　　)
3. 을국에서 X재 1단위 생산의 기회비용은 Y재 1.5단위이다. (　　)
4. 양국은 서로 기회비용이 큰 재화에 비교우위가 있으므로 이러한 재화를 특화하여 생산하고 교역한다. (　　)
5. 갑국은 X재에, 을국은 Y재에 비교우위가 있다. (　　)
6. X재와 Y재의 교환 비율이 1 : 1이라면 두 나라 모두 이익을 얻는다. (　　)
7. 양국이 모두 이익을 얻기 위해서는 X재 1단위와 Y재 3/2단위와 Y재 2단위 사이에서 거래를 하면 된다. (　　)
8. 양국이 모두 이익을 얻기 위해서는 Y재 1단위와 X재 1/2단위와 X재 3/2단위 사이에서 거래를 하면 된다. (　　)
9. 양국이 Y재 1단위와 X재 7/12단위를 거래할 경우 모두 이익을 얻는다. (　　)

※ 다음 표를 옳은 것은 O, 옳지 않은 것은 X를 하시오. [10~18]

<X재와 Y재 1단위 생산에 필요한 비용>

(단위 : 달러)

구분	X재	Y재
갑국	3	5
을국	6	7

* 교역 시 양국은 비교 우위에 있는 재화에 특화함

10. 갑국은 X재와 Y재 생산 모두에 절대 우위를 가진다. (　　)
11. 갑국의 X재 1단위 생산의 기회비용은 Y재 1/2단위이다. (　　)
12. 을국에서 X재 1단위 생산의 기회비용은 Y재 6/7단위이다. (　　)
13. 교역을 하기 위해서는 갑국은 X재를 특화하고, 을국은 Y재를 특화할 것이다. (　　)
14. 양국이 특화한 재화만을 생산하여 교역을 하여 이익을 얻게 되면 기회비용은 증가한다. (　　)
15. X재 1단위와 Y재 2단위가 교환되면 두 나라 모두 이익을 얻는다. (　　)
16. 갑국은 X재 1단위와 최소 Y재 3/5단위보다 많이 얻어야 이익을 얻게 된다. (　　)
17. 양국이 모두 이익을 얻기 위해서는 X재 1단위와 Y재 3/5단위와 Y재 6/7단위 사이에서 거래를 하면 된다. (　　)
18. 양국이 Y재 5단위와 X재 7단위를 거래하려고 한다면 갑국만 이익을 보므로 거래가 이루어지지 않을 것이다. (　　)

▶ 정답 및 해설

구분	갑국	을국
X재	10 Y재 2	6 Y재 3/2
Y재	5 X재 1/2	4 X재 2/3

1. X – 을국은 X재와 Y재 생산 모두에 절대 우위를 가짐
2. O
3. O
4. X – 기회비용이 작은 재화에 비교우위가 있음
5. X – 갑국은 Y재에, 을국은 X재에 비교우위가 있음
6. X – X재와 Y재를 1 : 1로 교환할 경우 X재를 생산하는 을국은 손실을 보나, Y재를 생산하는 갑국은 이익을 보게됨.
7. O
8. X – Y재 1단위와 X재 1/2단위와 Y재 2/3단위 사이에서 거래를 하면 양국 모두 이익
9. O

구분	X재	Y재
갑국	3 Y재 3/5	5 X재 5/3
을국	6 Y재 6/7	7 X재 7/6

10. O
11. X – Y재 3/5단위
12. O
13. O – 기회비용이 작은 쪽에 비교우위가 있으므로
14. O – 자신들이 특화한 재화 1단위보다 더 많은 것과 교역해야 이익을 얻으므로 교역 후 기회비용은 증가함
15. X – 갑국은 이득을 보나, 을국은 손실을 보게 됨
16. O
17. O
18. X – 양국 모두 이익을 얻으므로 거래가 이루어짐

※ 그림은 X재와 Y재만 생산하는 갑국과 을국의 생산 가능 곡선을 나타낸다. 이에 대한 분석에 대하여 O, X 하시오.(단, 양국의 생산 요소 투입량은 동일하며, 양국은 이익이 발생할 경우 비교 우위 재화에 특화하여 생산·교역한다.) [19-30]

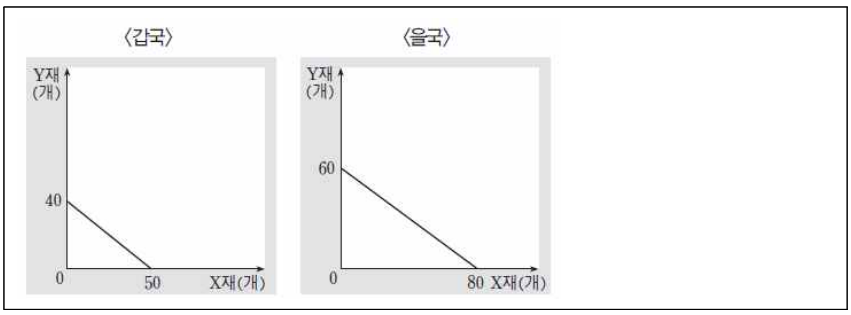

19. 갑국은 X재와 Y재 모두에 대하여 절대우위를 가진다. (　　)

20. 갑국은 X 25개와 Y재 25개를 동시에 생산할 수 있다. (　　)

21. 을국에는 효율적인 생산 조합인 경우 갑국에는 비효율적인 생산 조합이 된다. (　　)

22. 갑국이 X재만 생산한다면 최대 생산량은 50개이고, Y재만 생산한다면 최대 생산량은 40개이다. (　　)

23. 갑국의 X재 1단위 생산에 따른 Y재의 기회비용은 Y재 5/4단위이다. (　　)

24. 을국의 Y재 1단위 생산에 따른 Y재의 기회비용은 X재 4/3단위이다. (　　)

25. X재 1개 생산의 기회비용은 갑국이 을국보다 작다. (　　)

26. 을국은 Y재 생산에 비교 우위를 가진다. (　　)

27. 교역 후 갑국의 Y재 소비에 따른 기회비용은 감소한다. (　　)

28. 갑국은 X재를 특화하고, 을국은 Y재를 특화할 것이다. (　　)

29. X재와 Y재의 교환 비율이 1 : 1이라면 양국이 모두 이익을 얻을 것이다. (　　)

30. X재와 Y재의 교환 비율이 3 : 1이라면 을국은 무역에 응하지 않을 것이다. (　　)

▶ 정답 및 해설

19. X - 생산 가능 곡선의 경우 최대 생산량을 나타내므로 을국이 X재와 Y재 생산 모두에 절대 우위를 가짐
20. X - 갑국은 X재 25개와 Y재 20개를 동시에 생산 가능
21. X - 갑국에는 생산 불가능한 조합이 됨
22. O
23. X - 생산 가능 곡선에서 기울기가 기회비용이므로 Y재 4/5단위
24. O
25. X - X재 1개 생산의 기회비용은 갑국이 Y재 4/5개, 을국이 Y재 6/8개이다. 따라서 X재 1개 생산의 기회비용은 갑국이 을국보다 큼
26. X - 을국은 갑국보다 X재 1개 생산의 기회비용이 작으므로 X재 생산에 비교 우위를 가짐
27. X - 갑국은 비교 우위를 가진 Y재 생산에 특화하여 교역한다. 교역 이전 Y재 1개의 기회비용은 X재 5/4개이며, 교역 이후 이익이 발생하기 위해서는 Y재 1개와 교환하는 X재가 적어도 5/4개보다 커야 한다. 즉, 교역 이후 Y재 소비에 따른 기회비용은 증가하게 됨
28. X - 순서가 바뀜
29. X - 양국이 모두 이익을 얻기 위해서는 Y재 3/4단위<X재 1단위<Y재 4/5단위여야 하므로 1:1의 비율로 교역하면 양국 모두 이익을 얻는 경우가 아님
30. O - 을국이 이익을 얻기 위해서는 X재 1단위>Y재 3/4단위여야 햐므로

자유 무역과 보호 무역

※ 다음 그림은 갑국의 자유 무역으로 인한 사회적 잉여의 변화를 나타낸 것이다. 이에 대한 설명으로 옳은 것은 O, 틀린 것은 X를 하시오. [1-16]

〈그림 1〉

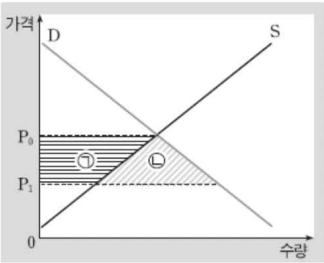

〈그림 2〉

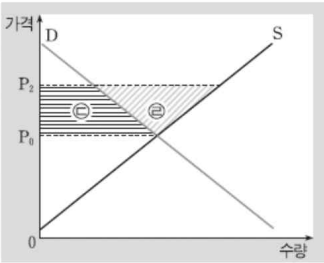

<그림 1>은 무역 전 국내 가격(P_0)이 국제 가격(P_1)보다 높은 경우이고, <그림 2>는 무역 전 국내 가격(P_0)이 국제 가격(P_2)보다 낮은 경우이다.

1. <그림 1>은 수입재, <그림 2>는 수출재에 대한 것이다. (　　)
2. <그림 1>에서 자유 무역으로 인해 X재의 국내 가격은 국제 가격인 P_1과 같게 된다. (　　)
3. 자유 무역 후 갑국의 소비자 잉여는 ㉠만큼 증가하고, 생산자 잉여는 ㉠만큼 감소한다. (　　)
4. <그림 1>에서 교역으로 인해 갑국의 사회적 잉여는 ㉡만큼 증가한다. (　　)
5. <그림 2>에서 자유 무역으로 인해 X재의 국내 가격은 국제 가격인 P2와 같게 된다. (　　)
6. <그림 2>에서 자유 무역 후 시장 가격의 상승으로 갑국의 소비자 잉여는 ㉢만큼 감소하고, 생산자 잉여는 ㉢만큼 증가한다. (　　)
7. <그림 2>에서 결과적으로 교역으로 인해 갑국의 사회적 잉여는 변화가 없다. (　　)
8. 자유 무역을 하면 수입재는 수출재와 달리 사회적 잉여가 증가한다. (　　)
9. 일반적으로 자유 무역 결과 수입재는 국내 가격이 하락하고, 수출재는 국내 가격이 상승한다. (　　)
10. 수출재의 경우 국내 가격 상승으로 국내 생산자 잉여는 증가하지만, 국내 소비자는 가격 상승으로 소비자 잉여가 감소한다. (　　)
11. 수입재의 경우 국내 가격 하락으로 국내 생산자 잉여는 증가하지만, 국내 소비자는 가격 하락으로 소비자 잉여가 감소한다. (　　)
12. 자유 무역을 통해 소비 가능 영역이 확대되고, 소비자의 이익을 증대시킬 수 있다. (　　)
13. 자유 무역을 통해 국내 산업의 생산성을 증대시키고, 국내 산업을 보호할 수 있다. (　　)
14. 농업 등 식량 안보에 중요한 산업을 보호 육성하기 위한 것은 자유 무역 정책의 근거가 된다. (　　)
15. 자유 무역을 확대하면 정부가 국내 산업을 보호하거나 지원하기가 쉬워진다는 장점이 있다. (　　)
16. 자유 무역이 확대되면 외국의 경제 위기가 국내에 파급되는 것을 막을 수 있다. (　　)

▶ 정답 및 해설

1. O
2. O
3. X - 갑국의 소비자 잉여는 ㉠+㉡만큼 증가하고, 생산자 잉여는 ㉠만큼 감소
4. O
5. O
6. X - 무역 후 시장 가격의 상승으로 갑국의 소비자 잉여는 ㉢만큼 감소하고, 생산자 잉여는 ㉢+㉣만큼 증가
7. X - 갑국의 사회적 잉여는 ㉣만큼 증가
8. X - 수입재와 수출재 모두 사회적 잉여가 증가
9. O
10. O
11. X - 수입재의 경우 국내 가격 하락으로 국내 생산자 잉여는 감소하지만, 국내 소비자는 가격 하락으로 소비자 잉여가 증가
12. O
13. X - 국내 산업의 보호는 보호 무역의 특징
14. X - 보호 무역의 근거
15. X - 자유 무역이 확대되면 정부가 국내 산업을 보호하거나 지원하기 어려워짐
16. X - 자유 무역이 확대되면 외국의 경제 위기가 국내에 쉽게 파급될 수 있음

※ 다음 그래프는 관세 부과 후의 갑국의 X재 시장의 상황에 대한 것이다. 이에 대한 설명으로 옳은 것은 O, 틀린 것은 X를 하시오. (단, 갑국 정부는 자유 무역을 통해 관세 없이 P의 국제 가격에서 수입되던 X재에 대해 관세를 부과하였다. 국내산 X재와 외국산 X재는 동일하며, X재는 국제 가격 수준에서 갑국의 국내 시장에 무제한 공급이 가능하다.) [17-34]

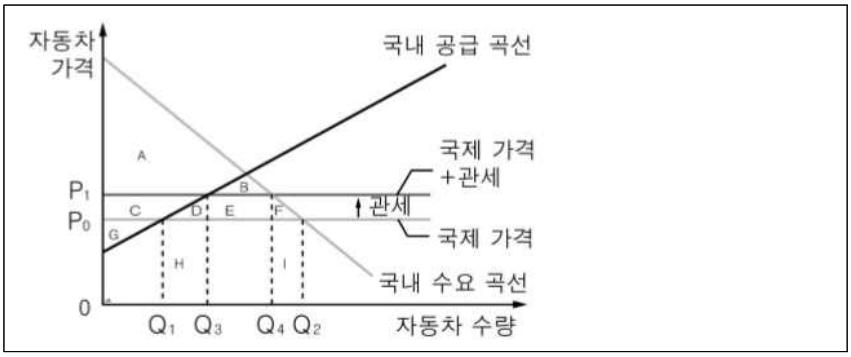

17. 관세 부과 전 X재에 대한 국내 생산자의 공급은 Q_1이고, 국내 소비자의 수요량은 Q_2이다. (　　)
18. 관세 부과 전 X재의 수입량은 Q_3Q_4이다. (　　)
19. 관세 부과 후 X재의 수입량은 Q_1Q_2이다. (　　)
20. 관세 부과 후 국내 생산량은 Q_1Q_3만큼 증가하여 고용 증가의 효과를 가져올 수 있다. (　　)
21. 관세 부과 후 국내 수요량이 Q_3Q_2만큼 감소한다. (　　)
22. 수입량이 Q_3Q_4이고 수입량 1단위당 P_0P_1의 관세가 부과되기 때문에 관세 수입은 이를 곱한 값인 사각형 E만큼 재정 수입이 증가한다. (　　)
23. 관세 부과로 인해 수입량이 Q_1Q_2에서 Q_3Q_4로 감소한다. (　　)
24. 위의 그래프에서 H, I는 관세로 인한 수입액의 감소분으로 이는 국제 수지 개선의 효과를 가져온다. (　　)
25. 관세 부과 전 소비자 잉여는 A+B+C+D+E+F이다. (　　)
26. 관세 부과 전 생산자 잉여는 C+G이다. (　　)
27. 관세 부과 후 소비자 잉여는 A+B, 생산자 잉여는 C+G이다. (　　)
28. 관세 부과 후 사회적 잉여는 증가한다. (　　)
29. 관세 부과 후 정부의 조세 수입은 D+E+F이다. (　　)
30. 관세를 부과할 경우 국내 가격은 국제 가격에 관세를 더한 가격까지 상승하고, 국내 생산은 증가하지만, 국내 소비와 수입량은 감소한다. (　　)
31. 관세를 부과할 경우 생산자 잉여와 정부 수입은 증가하지만 소비자 잉여는 감소하고, 전체적으로 사회적 잉여는 증가한다. (　　)
32. 관세를 부과할 경우 자원이 효율적으로 배분되는 결과를 가져온다. (　　)
33. 관세 부과를 통하여 국내 산업의 경쟁력을 높이고, 소비자들이 보다 낮은 가격으로 상품을 소비할 수 있다는 장점이 있다. (　　)
34. 관세 부과를 통하여 국제 수지는 개선될 수 있다. (　　)

▶ 정답 및 해설

17. O
18. X - 관세 부과 전 X재의 수입량은 Q_1Q_2
19. X - 관세 부과 후 X재의 수입량은 Q_3Q_4
20. O
21. X - 관세 부과 후 국내 수요량이 Q_4Q_2만큼 감소
22. O
23. O
24. O
25. O
26. X - 관세 부과 전 생산자 잉여는 G
27. O
28. X - 관세 부과 후 사회적 잉여는 D+F 만큼 감소
29. X - 정부의 조세 수입은 E
30. O
31. X - 관세를 부과할 경우 생산자 잉여와 정부 수입은 증가하지만 소비자 잉여는 감소, 전체적으로 사회적 잉여는 감소
32. X - 관세를 부과하면 전체적으로 사회적 잉여는 감소하여 자원 배분의 비효율성이 발생함
33. X - 전단의 설명은 맞지만, 소비자들은 관세가 반영된 보다 높은 가격으로 상품을 소비
34. O - 수입액을 줄여 국제 수지 개선 효과

환율

※ 다음은 환율의 상승과 하락 요인에 대한 설명이다. 다음 중 옳은 것은 O, 옳지 않은 것은 X를 하시오. [1-11]

1. 외국인의 국내 예금이 감소한 것은 외화의 공급 감소 요인으로 환율은 상승하게 된다. ( )
2. 상품의 수입 증가는 외화의 공급 증가 요인으로 환율이 하락한다. ( )
3. 상품의 수출 증가는 외화의 공급 증가 요인으로 환율이 하락한다. ( )
4. 해외여행을 떠나는 사람들이 늘어나는 경우 외화의 수요가 증가하여 환율 상승 요인이 된다. ( )
5. 국내 주식 시장에서 외국인의 주식 구매가 증가한 경우 외화의 수요 증가로 환율 상승 요인이 된다. ( )
6. 국내 금융 회사가 외국 은행에 이자를 지급하는 것은 외화의 유출로서 외화의 수요가 증가하여 환율 상승 요인이다. ( )
7. 외국인들이 우리나라 시장에서 채권 매입을 늘리고 있는 것은 외화의 공급 증가 요인이다. ( )
8. 우리나라 국민들의 해외 여행과 해외 유학이 증가하고 있다면 외화의 수요가 증가하여 환율이 상승하게 된다. ( )
9. 최근 해외 수출의 악화가 지속되는 경우 이는 환율 하락 요인으로 작용한다. ( )
10. 우리나라 수입 기업들의 환전 증가는 외화의 수요 증가를 초래하여 환율 상승 요인이 된다. ( )
11. 해외로부터의 수입의 감소는 외화의 공급 감소 요인으로 환율은 상승하게 된다. ( )

※ 다음은 환율의 상승과 하락의 효과에 대한 설명이다. 다음 중 옳은 것은 O, 옳지 않은 것은 X를 하시오. [12-24]

12. 국내 물가가 상승하면 수출은 증가하고, 수입은 감소하고, 그 결과 국제수지는 개선된다. ( )
13. 국내 물가 상승은 환율 상승의 효과를 가져온다. ( )
14. 환율이 상승하면 수출품의 외화 표시 가격 하락으로 수출품의 가격 경쟁력이 높아져 수출이 증가한다. ( )
15. 환율이 상승하면 순수출의 증가로 인한 통화량이 증가하고 물가 상승 요인이 된다. ( )
16. 환율이 상승하면 자국민의 해외 여행 부담은 감소하여 해외 여행이 증가한다. ( )
17. 환율이 상승하면 기업의 외채 상환 부담을 증가시킨다. ( )
18. 환율이 상승하면 자국의 화폐가치는 떨어져서 수출은 증가한다. ( )
19. 환율이 상승하면 수입품의 원화 표시 가격이 하락하여 수입이 감소한다. ( )
20. 해외 여행을 가고자 하는 우리나라 사람은 환율이 상승했을 때 가는 것이 유리하다. ( )
21. 지속적으로 원/달러 환율이 하락한다는 전망이 나올 경우, 기업은 외채 상환을 서두르는 것이 유리하다. ( )
22. 환율의 상승으로 수출이 증가하고 수입이 감소할 경우 환율은 다시 하락한다. ( )
23. 원/달러 환율이 상승하면 원화의 가치는 하락하고 달러의 가치는 상승한다. ( )
24. 환율이 상승하면 수출업자는 유리하지만, 수입업자는 불리해진다. ( )

▶ 정답 및 해설

1. O
2. X - 수입 증가는 외화의 수요 증가 요인으로 환율 상승 요인
3. O
4. O
5. X - 외화의 공급 증가로 인해 환율 하락 요인이 됨
6. O
7. O
8. O
9. X - 수출 감소는 외화의 공급 감소 요인이고 환율 상승으로 이어짐
10. O
11. X - 수입 감소는 외화의 수요 감소 요인으로 환율 하락으로 이어짐
12. X - 국내 물가 상승은 수출 감소, 수입 증가, 국제수지 악화를 가져옴
13. O - 수출 감소로 외화의 공급 감소, 수입 증가로 외화의 수요 증가로 인해 환율은 상승하게 됨
14. O
15. O
16. X - 환율 하락의 효과
17. O
18. O
19. X - 수입 감소는 맞지만, 원화 표시 가격 상승으로 수입 감소
20. X - 환율이 하락하여 원화의 가치가 상승할 때 해외여행 가는 것이 유리
21. X - 환율 하락으로 원화의 가치는 상승하므로 기업의 외채 상환은 늦추는 것이 유리
22. O
23. O
24. O - 환율 상승으로 수출은 증가하므로 수출업자는 유리하고, 수입품의 가격 상승으로 수입업자는 불리

※ 다음과 같은 환율의 변동이 나타날 때 다음 중 옳은 것은 O, 옳지 않은 것은 X를 하시오. [25-32] [2019 경찰직 1차 변형]

구분	2월	3월	4월
원/100엔	1,000	1,050	1,100
원/달러	1,200	1,150	1,100

25. 화폐의 가치는 엔화>원화>달러화의 순서대로 높다. (　　)

26. 한국 사람이 일본으로 여행갈 경우 경비 부담은 증가한다. (　　)

27. 한국 기업은 엔화 외화부채의 상환을 미룬다. (　　)

28. 한국시장에서 미국 자동차보다 일본 자동차의 가격 경쟁력이 더 높다. (　　)

29. 미국 사람은 일본 여행 일정을 앞당기는 것이 유리하다. (　　)

30. 한국 기업은 올해 초 수입한 달러화 수입품의 결제를 서두르는 것이 유리하다. (　　)

31. 일본에 유학생을 보낸 대한민국 학부모의 부담은 증가하지만, 미국으로 유학생을 보낸 학부모의 부담은 감소한다. (　　)

32. 현금자산 중 달러의 원화 환전을 늦춘다. (　　)

※ 다음과 같은 환율의 변동 추세가 지속될 때 나타날 수 있는 영향으로 옳은 것은 O, 옳지 않은 것은 X를 하시오. [33-41] [2013 지방직 변형]

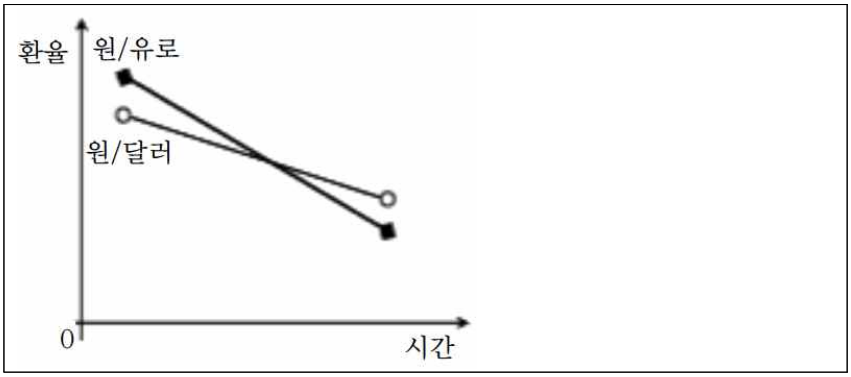

33. 화폐의 가치는 원화>달러화>유로화의 순서대로 높다. (　　)

34. 한국 반도체의 미국과 유럽으로의 수출 전망은 밝다. (　　)

35. 달러화 자금을 차입한 한국 기업의 상환 부담이 감소할 것이다. (　　)

36. 유럽을 여행하는 우리나라 사람들의 여행비 부담은 증가할 것이다. (　　)

37. 국내 수입 자동차 시장에서 유럽산 자동차보다 미국산 자동차의 가격 경쟁력이 더 높아질 것이다. (　　)

38. 국내 물가의 인상 압력이 높아질 것이다. (　　)

39. 미국 여행을 다녀오고 남은 달러를 원화로 빨리 환전하는 것이 유리하다. (　　)

40. 한국으로 유럽과 미국 관광객이 증가할 것이다. (　　)

41. 예전보다 미국인들은 한국 여행보다 유럽 여행을 선호할 것이다. (　　)

▶ 정답 및 해설

25. O - 원/100엔 환율은 상승하고 있으나, 원/달러 환율은 하락하고 있으므로 화폐의 가치는 엔화>원화>달러의 순서대로 높음
26. O - 원화의 가치가 엔화의 가치보다 낮아졌으므로 여행 경비 부담이 증가
27. X - 엔화의 가치가 상승하고 있으므로 엔화 외화부채의 상환을 서두르는 것이 유리
28. X- 자국 화폐의 가치가 낮을수록 수출 경쟁력이 높음
29. O - 엔화 대비 달러화의 가치는 계속 떨어지고 있으므로 미국 사람은 일본 여행을 서두르는 것이 유리
30. X - 원/달러 환율은 하락하여 원화의 가치는 상승하고 있으므로올해 초 수입한 달러화 수입품의 결제는 미루는 것이 더 유리
31. O
32. X - 달러화 대비 원화의 가치는 상승하고 있으므로 서둘러 달러를 원화로 환전하는 것이 더 유리
33. O - 원/유로의 낙폭은 원/달러보다 크므로
34. X - 화폐 가치 상승으로 수출은 불리해짐
35. O - 원화의 가치가 커져서 달러화 자금을 차입한 한국 기업의 상환 부담은 감소
36. X - 원화 가치 상승으로 여행 부담은 줄어듦
37. X - 유로화의 가치가 달러보다 더 하락했으므로 유럽 자동차의 국내 가격이 미국 자동차의 가격 하락보다 더 클 것이므로 유럽산 자동차의 가격 경쟁력이 더 높아질 것
38. X - 원화의 가치 상승으로 수출은 감소하고 수입은 증가하게 되어 순수출이 감소하고 충수요는 감소하여 물가는 하락
39. O - 원화의 가치가 높으므로
40. X - 감소
41. O

국제 수지

※ 다음은 국제수지표를 나타낸 것이다. 이에 대한 설명으로 옳은 것은 O, 옳지 않은 것은 X를 하시오. [1-12]

구분		외화 수취	외화 지급
경상 수지	상품 수지	㉠	㉡
	서비스 수지	㉢	㉣
	본원 소득 수지	㉤	㉥
	이전 소득 수지	㉦	㉧
자본수지·금융계정		㉨	㉩

1. 국내 김 생산 업체가 일본에 김을 수출하고 대금을 받는 것은 ㉠에 해당한다. ( )
2. 대한민국에 거주하는 농민이 사과 품종에 대한 사용료를 일본에 지급하는 것은 ㉣에 해당한다. ( )
3. 대한민국 정부가 일본 정부로부터 특허권 양도의 대가를 지급한 것은 ㉣에 해당한다. ( )
4. 한국에 온 베트남 노동자가 본국의 가족들에게 자신의 월급을 송금한 경우 ㉧에 해당한다. ( )
5. 한국 자동차 회사가 인도 현지에 공장을 세운 것은 ㉩에 해당한다. ( )
6. 외국계 금융회사의 한국 금융시장 진출 증가는 ㉨에 해당한다. ( )
7. 우리나라 사람이 미국 여행을 가서 최고급 호텔에 숙박요금을 지불한 것은 ㉣에 해당한다. ( )
8. 국내 자선단체가 아프리카 어린이들에게 후원금을 보낸 것은 ㉧에 해당한다. ( )
9. 국내에서 발생한 태풍의 피해 복구를 위해 외국으로부터 무상원조를 받는 것은 ㉤에 해당한다. ( )
10. 국내 투자자가 미국 주식시장에서 애플 주식을 산 것은 ㉥에 해당한다. ( )
11. 국내 투자자가 보유하고 있던 애플 주식에 대한 배당금을 지급받은 것은 ㉤에 해당한다. ( )
12. 국제 수지는 일정 기간 동안 한 나라가 수취한 외화와 지급한 외화의 차액을 말한다. ( )

▶ 정답 및 해설

1. O
2. O - 특허권 사용료 지급은 서비스 수지
3. X - 특허권 양도는 자본수지
4. X - ㉥에 해당
5. O - 직접 투자로 금융계정에 해당
6. O
7. O
8. O
9. X - ㉦에 해당
10. X - 금융계정에 해당하므로 ㉩에 해당
11. O - 주식 배당금은 본원 소득 수지
12. O

※ 다음 표는 갑국의 경상 수지의 항목별 변화를 나타낸 것이다. 이에 대한 설명으로 옳은 것은 O, 옳지 않은 것은 X를 하시오. [13-23]

(단위:억 달러)

항목 \ 연도	2014년	2015년	2016년
상품 수지	20	30	40
서비스 수지	-10	20	-30
본원 소득 수지	50	-50	60
이전 소득 수지	10	-10	-20

13. 상품의 수출입 규모는 매년 증가하였다. (　　)

14. 2014년의 경상 수지는 흑자이지만, 2015년의 경상 수지는 적자이다. (　　)

15. 임금이 포함되는 항목의 순유입액이 가장 많은 해는 2014년이다. (　　)

16. 2015년에 운송료가 포함되는 항목은 적자를 기록하였다. (　　)

17. 2016년 갑국의 상품 수출액 증가율이 상품 수입액 증가율보다 크다. (　　)

18. 갑국은 상품의 수출입 규모보다 외국과의 서비스 거래 규모가 더 크다. (　　)

19. 2016년의 경상 수지는 '갑국 화폐/달러화' 환율의 상승 요인이다. (　　)

20. 2016년에 국가 간 무상 원조가 포함되는 항목은 수취액보다 지급액이 많았다. (　　)

21. 2014년 갑국의 경상 수지는 통화량 감소 요인이다. (　　)

22. 2015년의 경상 수지로 인한 환율의 변화는 우리나라 화폐의 가치 상승 요인이 된다. (　　)

23. 갑국은 매년 경상 수지의 국제 거래량이 증가하고 있다. (　　)

▶ 정답 및 해설

13. X - 국제 수지표는 일정 기간 동안 한 나라가 수취한 외화와 지급한 외화의 차액을 말하므로 수출입 규모는 알 수 없음
14. O
15. X - 임금이 포함되는 항목은 본원 소득 수지이므로 2016년에 순유입액이 가장 많음
16. X - 운송료가 포함되는 항목은 서비스 수지로, 2015년에 20억 달러의 흑자를 기록
17. X - 상품 수지가 증가한 것은 수출액의 증가 폭이 수입액의 증가 폭보다 크다는 것을 의미하는 것이지, 상품 수출액 증가율이 상품 수입액 증가율보다 더 크다는 것을 의미하지 않음
18. X - 알 수 없음
19. X - 흑자를 기록했으므로 외화의 공급이 증가하여 환율 하락 요인이 됨
20. O - 이전 소득 수지는 적자이므로
21. X - 흑자이므로 증가 요인
22. X - 적자를 기록했으므로 외화의 공급보다 수취가 많아 환율이 상승하게 되고 그 결과 원화의 가치는 떨어짐
23. X - 알 수 없음

제6단원 경제 생활과 금융

물가 변동과 이자율

※ 갑국의 연도별 명목이자율과 실질이자율이 그림과 같이 나타났을 때 이에 대한 설명으로 옳은 것은 O, 옳지 않은 것은 X를 하시오. [1-7] [2021 지방직 변형]

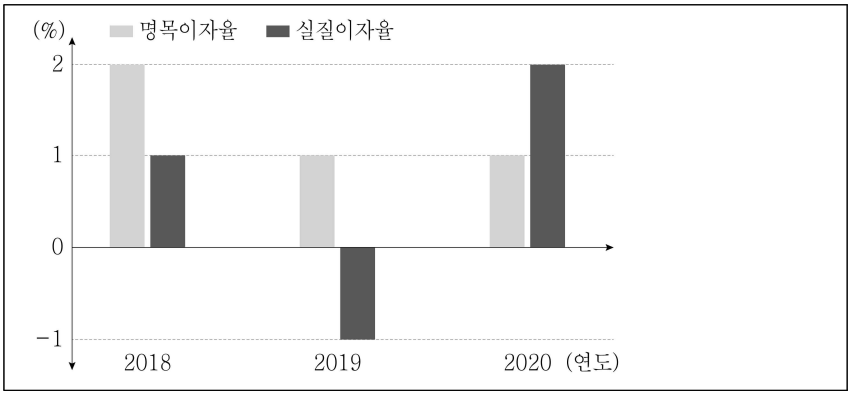

1. 갑국의 물가는 매년 상승하였다. (　　)
2. 2019년 물가 상승률은 2018년보다 더 낮다. (　　)
3. 실질 이자율은 명목 이자율에서 물가 상승률을 더한 값이다. (　　)
4. 명목 이자율은 실질 이자율에서 물가 상승률을 더한 값이다. (　　)
5. 2019년의 경우 예금보다 현금 보유가 수익성 측면에서 유리하다. (　　)
6. 2020년 물가 수준은 2019년보다 더 낮아졌다. (　　)
7. 2020년의 경우 2019년보다 화폐가치가 하락하였다. (　　)

※ 그림은 A 국의 명목 이자율과 물가 상승률의 추이를 나타낸 것이다. 이에 대한 설명으로 옳은 것은 O, 옳지 않은 것은 X를 하시오. [8-14] [2019년 10월 모의 변형]

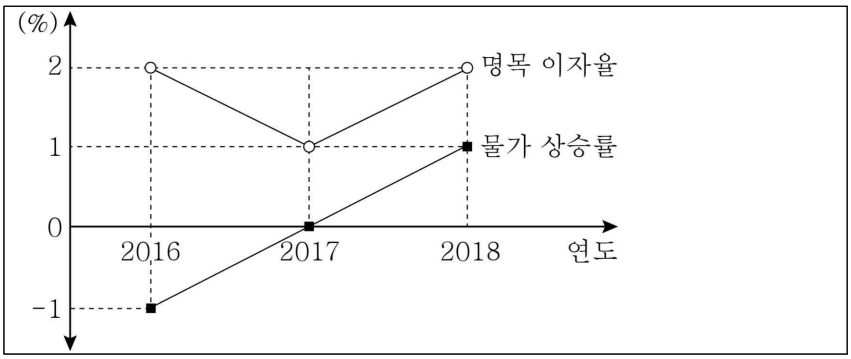

8. 2016년에는 예금보다 현금 보유가 유리하다. (　　)
9. A국은 계속 실질 이자율이 증가한다. (　　)
10. 2017년에는 전년보다 예금에 대한 유인이 크다. (　　)
11. 2015년의 물가 수준보다 2018년의 물가 수준이 높다. (　　)
12. 물가 수준은 2017년이 2016년보다 높다. (　　)
13. 실질 이자율은 2016년이 2018년보다 높다. (　　)
14. 2017년의 실질 이자율은 0%이다. (　　)

▶ 정답 및 해설

구분 (단위 : %)	2018년	2019년	2020년
명목 이자율	2	1	1
실질 이자율	1	-1	2
물가 상승률	1	2	-1

1. X - 2020년에는 하락함
2. X - 2019년의 물가 상승률은 2%로 2018년의 1% 보다 높음
3. X - 실질 이자율은 명목 이자율에서 물가 상승률을 뺀 값
4. O
5. X - 예금하는 것이 유리
6. O
7. X - 2020년의 경우 전년보다 물가가 1%로 하락하였으므로 화폐의 가치는 더 높아짐

구분 (단위 : %)	2016년	2017년	2018년
명목 이자율	2	1	2
실질 이자율	3	1	1
물가 상승률	-1	0	1

8. X - 예금이 유리
9. O
10. X- 2017년의 실질 이자율은 전년도의 3%에서 1%로 감소하였으므로 전년보다 예금에 대한 유인이 작음
11. X - 2015년이 높음(변화율의 비대칭성)
12. X - 2017년의 물가 상승률이 0%이므로 2017년의 물가 수준은 2016년과 같음
13. O
14. X - 1%

금융 상품의 유형

※ 다음은 금융 상품의 유형 중 예금, 채권, 주식에 대한 설명이다. 이에 대한 설명으로 옳은 것은 O, 옳지 않은 것은 X를 하시오. [1-15]

주식과 채권의 비교

구분	주식	채권
발행자	주식회사	정부, 지방 자치 단체, 특수 법인, 주식회사
자본 조달 방법	자기 자본	타인 자본(부채)
증권 소유자의 지위	주주	채권자
증권의 존속 기간	만기 없음	만기 있음
권리	의결권, 배당금 수취	채권단에 참여, 확정 이자 수취
조달 원금 상환 의무	상환 의무 없음	만기 시 원금 상환
수익의 형태	배당금 수취, 시세 차익	이자 수입, 시세 차익
경영 참여권	의결권 행사로 가능	없음
안전성과 수익성	채권에 비해 안전성은 낮고 수익성은 높음.	주식에 비해 안전성은 높고, 수익성은 낮음.

1. 주식과 채권은 정부, 지방 자치 단체, 특수 법인, 주식회사 등이 발행할 수 있다. ( )
2. 주식과 달리 채권은 만기가 있다. ( )
3. 예금은 안전성이 높지만, 수익성은 낮은 편이다. ( )
4. 주식은 채권에 비해 안전성은 높고 수익성은 낮은 편이다. ( )
5. 예금과 채권은 이자가 수익 형태가 되지만, 주식은 이자가 없다. ( )
6. 시세 차익은 주식과 채권의 공통된 수익 형태이다. ( )
7. 채권을 가진 자는 회사의 주요 결정에 대한 의결권을 보유하게 된다. ( )
8. 주식은 자기 자본이므로 상환 의무가 없다. ( )
9. 요구불 예금은 저축성 예금보다 수익성은 낮지만, 유동성이 높다. ( )
10. 자산 관리의 주요 판단 기준으로 안전성, 수익성, 유동성이 있다. ( )
11. 요구불 예금은 저축성 예금과 달리 예금자 보호 제도가 적용된다. ( )
12. 한국 은행에서 기준 금리를 상승하게 되면 일반적으로 주식과 채권의 가격은 상승하게 된다. ( )
13. 예금은 안전성과 유동성이 높은 금융 상품이다. ( )
14. 부동산은 일반적으로 유동성이 높은 실물 상품이다. ( )
15. 주식과 채권은 배당금을 수취할 수 있는 금융 상품이다. ( )

▶ 정답 및 해설

1. X - 주식은 주식회사만 발행가능
2. O
3. O
4. X - 주식은 채권에 비해 안정성이 낮고, 수익성이 높은 편
5. O
6. O
7. X - 주식
8. O
9. O
10. O
11. X - 저축성 예금도 예금자 보호 제도가 적용됨
12. X - 예금으로 자금이 몰리므로 일반적으로 주식과 채권의 가격은 하락하게 됨
13. O
14. X - 부동산은 유동성이 낮음
15. X - 배당금 수취는 주식만 가능